**01. බදු පැනවීම පිළිබඳ පහත සඳහන් තොරතුරු සම්පූර්ණ කරන්න.**

| | බදු මූලාශ්‍ර | බදු පනවන පාර්ශ්ව | බදු පනවන ආකාර |
|---|---|---|---|
| 01. | ආදායම | - නිෂ්පාදකයන් මත (ඉපයීම මත) | - ඒකක බදු (දේශීය භාණ්ඩ බද්ද) |
| 02. | ලාභය | - පරිභෝජනකරුවන් මත (වියදම මත) | - ප්‍රතිශතක බදු (වටිනාකම් බද්ද) |
| 03. | භා / සේ | | |

**02. ඒකක බද්දක් සහ ප්‍රතිශතක බද්දක් අතර වෙනස පැහැදිලි කරන්න.**

| පෙට්‍රල් ලීටරයක මිල (රු) | රු. 20 ක ඒකක බද්ද | 20% ක ප්‍රතිශතක බද්ද |
|---|---|---|
| 200 | 20 | 40 |
| 300 | 20 | 60 |
| 400 | 20 | 80 |

- භාණ්ඩයක නිෂ්පාදනය කරන ඒකකයකින් නියමිත මුදලක් බදු ලෙස අය කිරීම ඒකක බද්දක් වේ. උදා:- නිශ්පාදන බද්ද
- ඒකක බද්දක ආදායම වත්කම් මිලෙන් මිල බද්ද වෙනස් නොවේ.

- භාණ්ඩයක නිෂ්පාදනය කරන වටිනාකමෙන් නියමිත ප්‍රතිශතයක් ලෙස බදු අය කිරීම ප්‍රතිශතක බද්දක් වේ.
උදා:- VAT
- ප්‍රතිශතක බද්දක ආදායම වත්කම් මිලෙන් මිල බද්ද වෙනස් වේ.

**03.** රජය විසින් භාණ්ඩ හා සේවා මත බදු පනවන පාර්ශ්වය සහ බදු අයකරන ආකාරය මත බදු වර්ග කරන්න.

01. ....................
02. ....................
03. ....................
04. ....................

**04.** රජය විසින් කිසියම් භාණ්ඩයක ඒකකයක් මත රු. 3 ක බද්දක් පනවන්නේ නම් බද්දෙන් පසු පහත සඳහන් දෑ වෙනස්වන අකාරය පෙන්වන්න.

1. සැපයුම් ලේඛනය වෙනස්වන ආකාරය

| මිල | සැපයුම් ප්‍රමාණය | නව සැපයුම් ප්‍රමාණය |
|---|---|---|
| 3 | 200 | 0 |
| 6 | 400 | 200 |
| 9 | 600 | 400 |
| 12 | 800 | 600 |
| 15 | 1000 | 800 |

2. සැපයුම් සමීකරණය වෙනස්වන ආකාරය

(අ) Qs = -50 + 5p

$Qs = -50 + 5P$

$Qs = -50 + 5(P-3)$

$Qs = -50 + 5P - 15$

$Qs = -65 + 5P$

(ආ) Qs = 200+ 40p

$Qs = 200 + 40P$

$Qs = 200 + 40(P-3)$

$Qs = 200 + 40P - 120$

$Qs = 80 + 40P$

3. සැපයුම් වක්‍රය වෙනස්වන ආකාරය

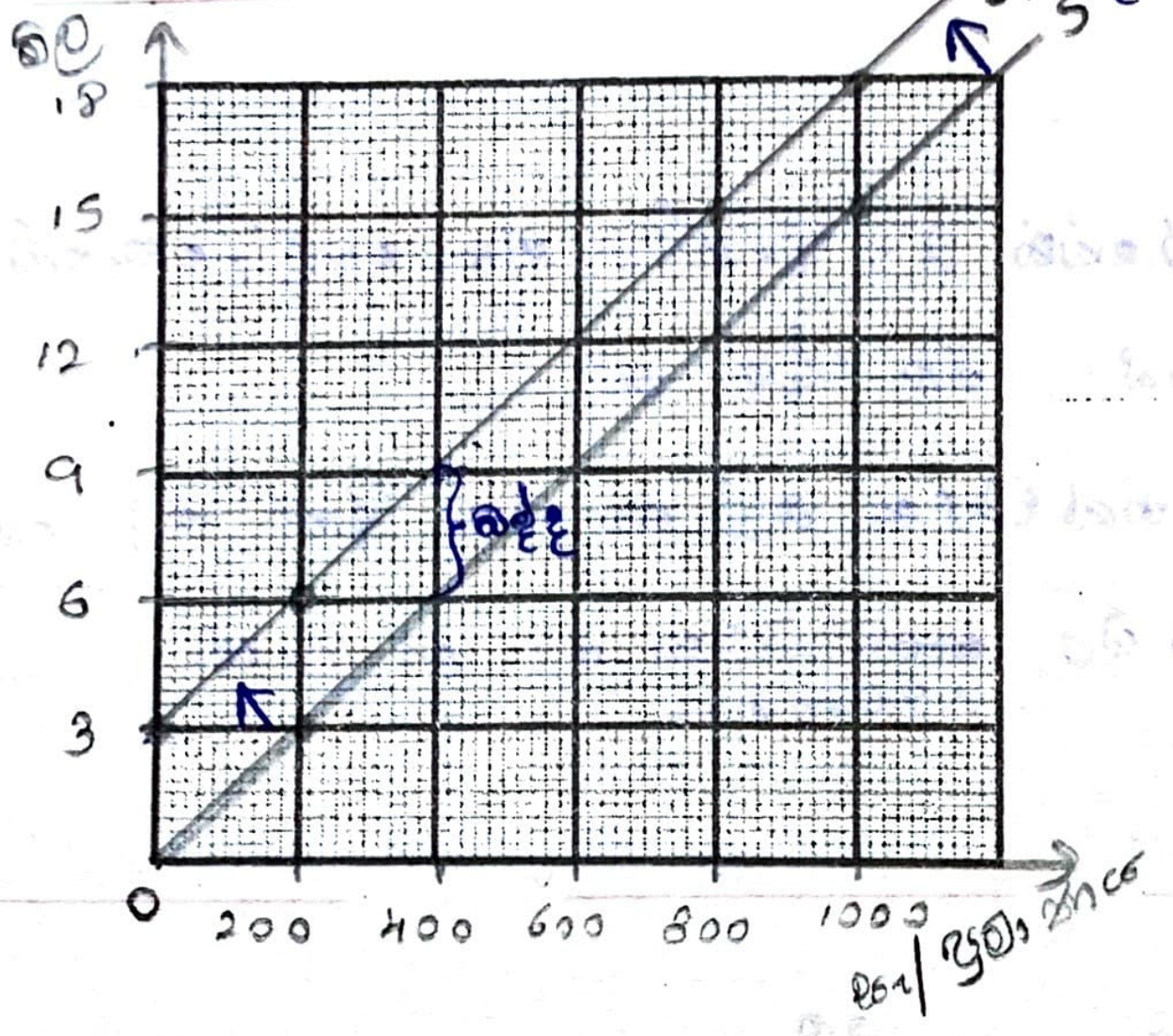

- ඒකක බද්දකදී සැපයුම් වක්‍රය සමාන්තරව වමට විතැන් වේ.
- ප්‍රතිශතක බද්දකදී සැපයුම් වක්‍රය සමාන්තරව වමට විතැන් නොවේ.

**05.රජය විසින් නිෂ්පාදකයන් මත පනවන බද්දක බදු ආපාතය පාරිභෝගිකයන් වෙත විතැන්වන පිළිවෙළ දක්වන්න.**

- රජය විසින් නිෂ්පාදකයන්ගෙන් බදු අය කිරීම නිසා වෙළඳපොළේ සැපයුම අඩු වීමෙන් භාණ්ඩයේ මිල වැඩි වේ.
- මිල වැඩි වන ප්‍රමාණය පාරිභෝගික බදු බර වන අතර, බද්දෙන් පාරිභෝගික බදු බර අඩු කළ විට නිෂ්පාදක බදු බර ලැබේ.

නිෂ්පාදකයන් මත පනවන ඒකක බද්දක්

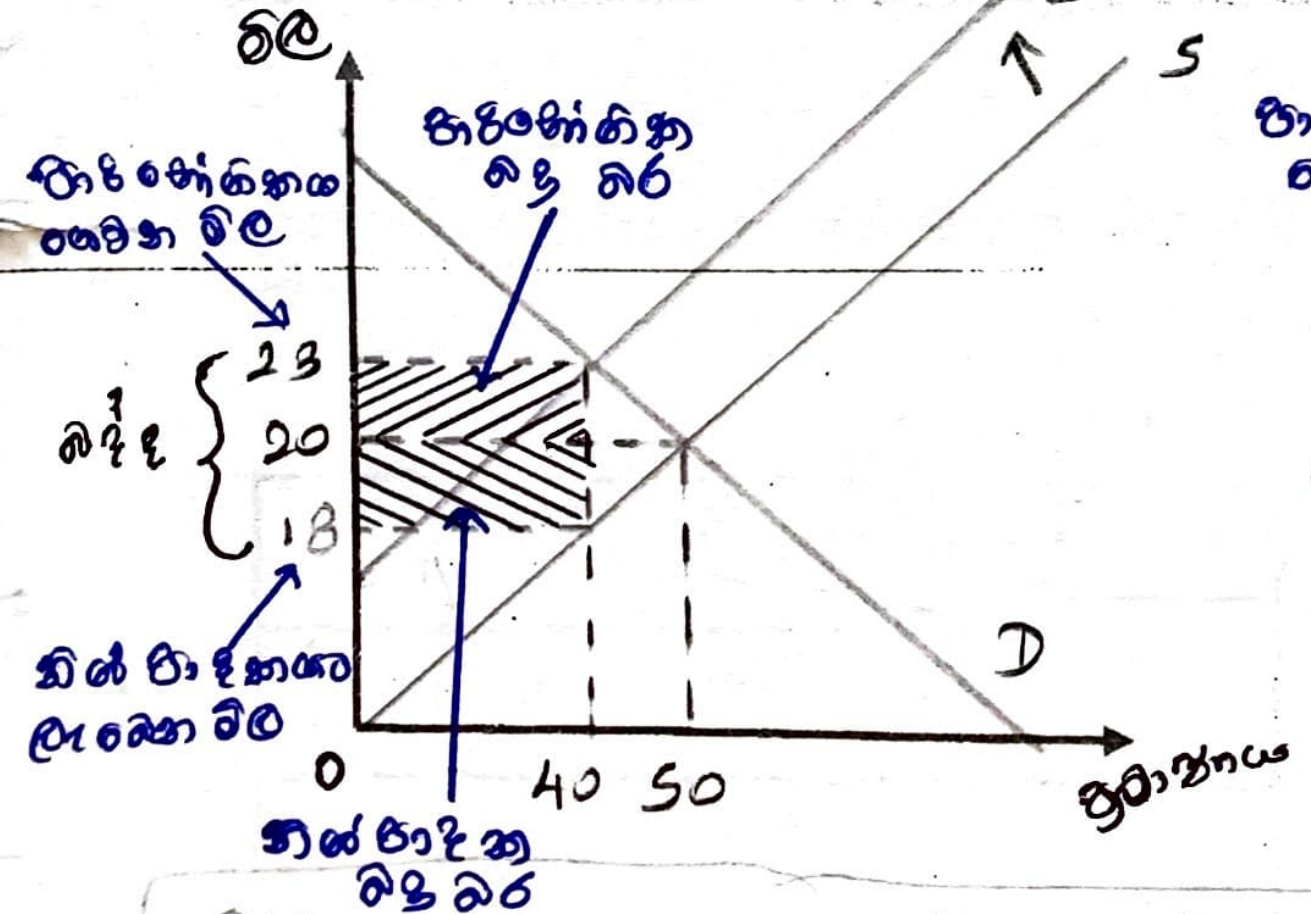

නිෂ්පාදකයන් මත පනවන ප්‍රතිශතක බද්දක්

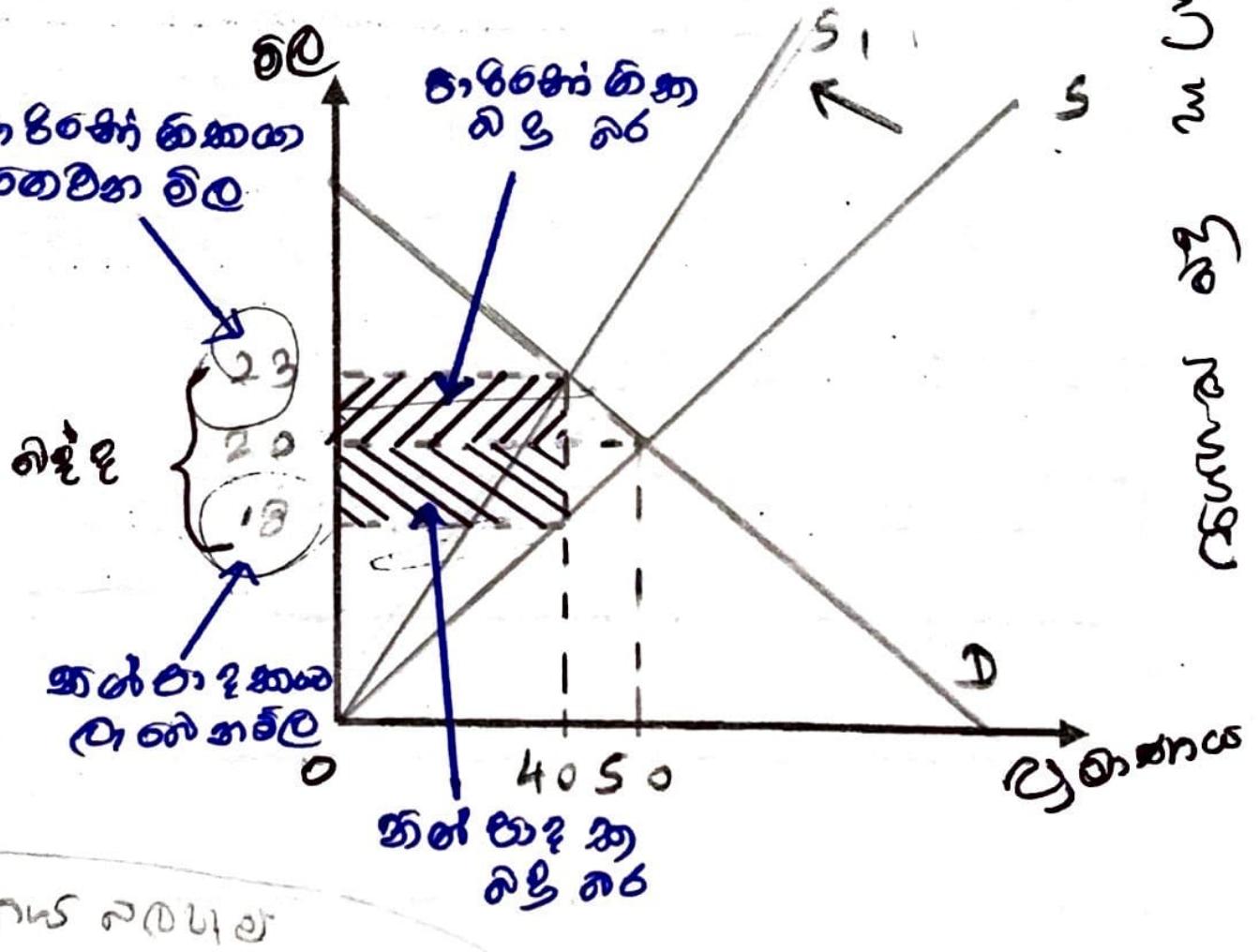

**06.පාරිභෝගිකයන් මත පනවන බද්දක බදු ආපාතය නිෂ්පාදකයන් වෙත විතැන්වන පිළිවෙළ දක්වන්න.**

පාරිභෝගිකයන් මත පනවන ඒකක බද්දක්

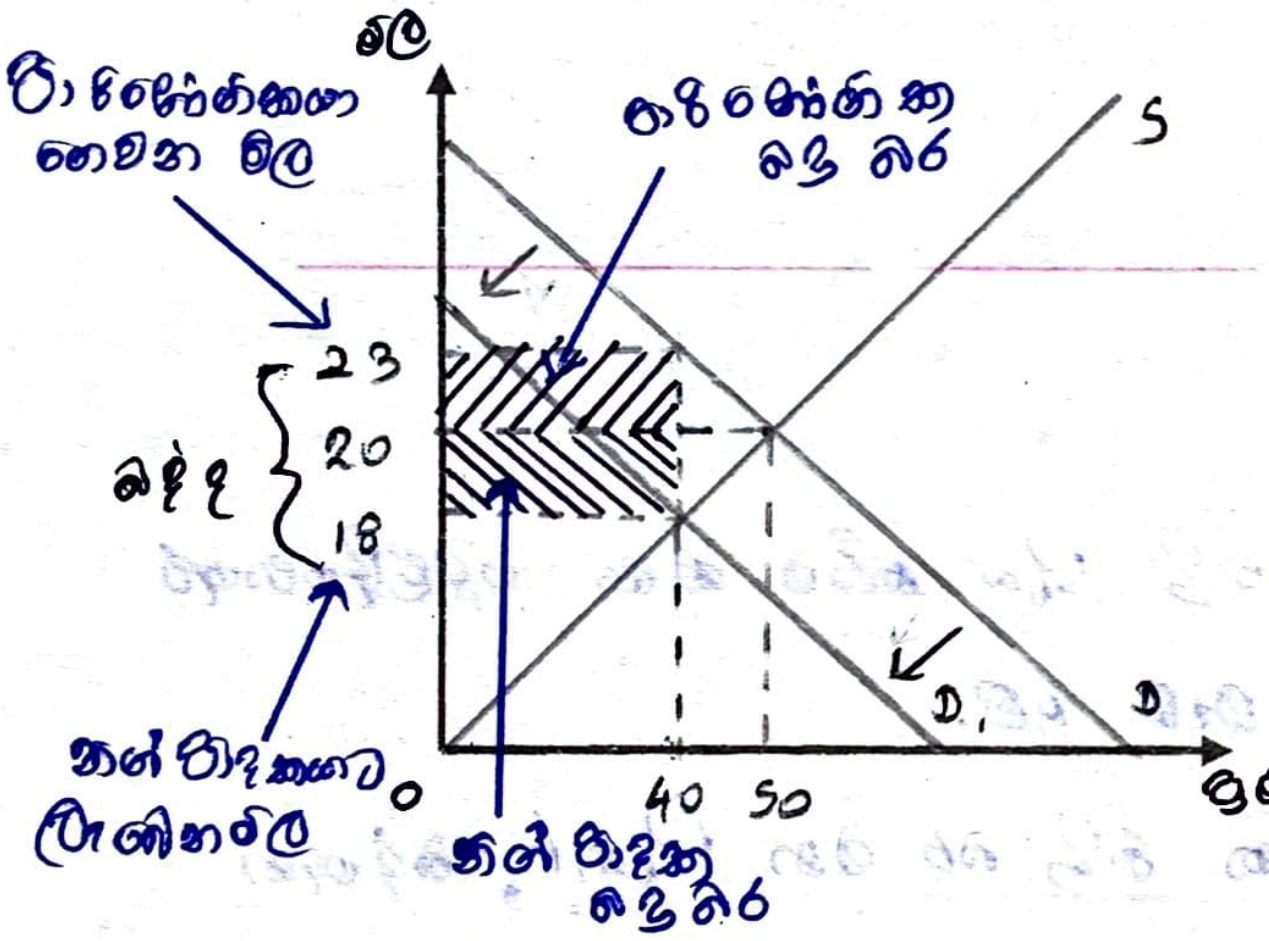

පාරිභෝගිකයන් මත පනවන ප්‍රතිශතක බද්දක්

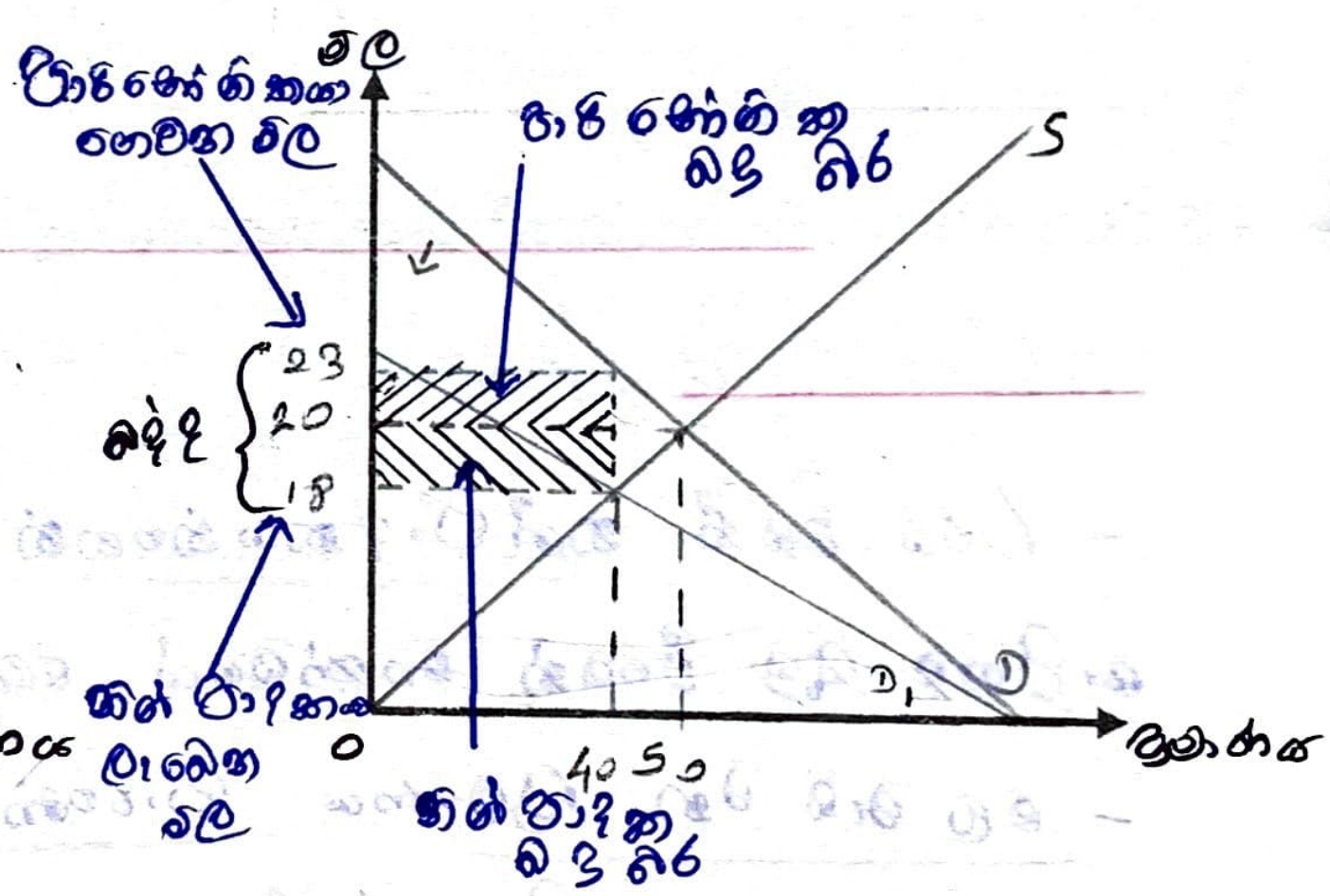

**07.තරඟකාරී වෙළඳපොළක අලෙවි වන භාණ්ඩයක් සම්බන්ධයෙන් පහත සඳහන් තොරතුරු ඔබට සපයා ඇත.**

| මිල (රු) | ඉල්ලුම් ප්‍රමාණය (ඒකක) | සැපයුම් ප්‍රමාණය (ඒකක) |
|---|---|---|
| 20 | 800 | 200 |
| 80 | 200 | 1400 |

i. **ඉහත සඳහන් තොරතුරු රූප සටහනක ඉදිරිපත් කර සමතුලිතය පෙන්වන්න.**

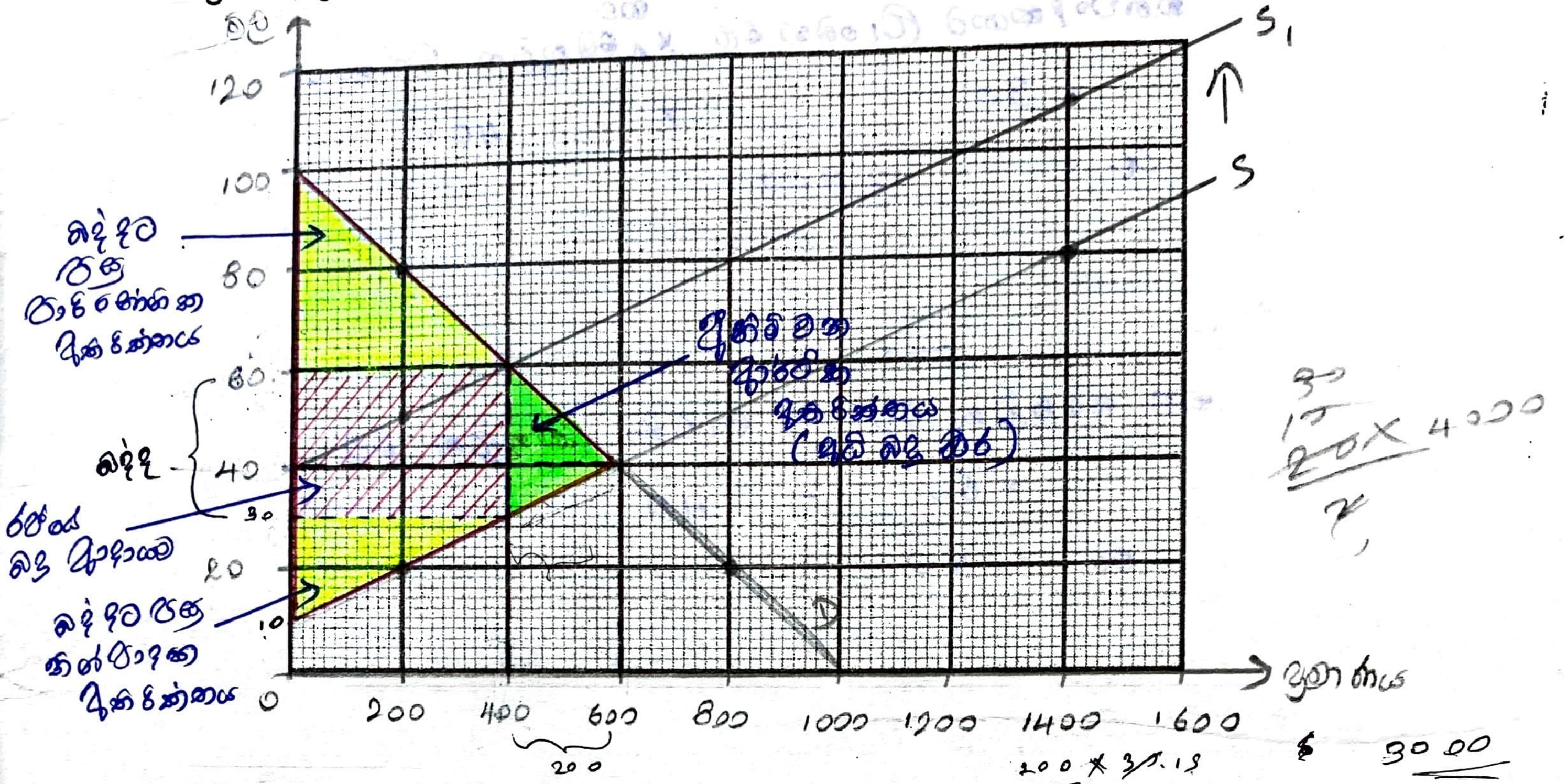


සමතුලිත මිල රු. 40

සමතුලිත ප්‍රමාණය ඒකක 600

ii. **රජය විසින් මෙම භාණ්ඩය මත ඒකකයක් සඳහා රු. 30 බැගින් වූ ද්‍රේශීය භාණ්ඩ බද්දක් පැනවීමට තීරණය කර ඇත්නම් එහි බලපෑම රූප සටහනෙහි පෙන්නුම් කර රූපසටහන ඇසුරින් පහත සඳහන් දෑ ගණනය කරන්න.**

a. නව සමතුලිත මිල හා ප්‍රමාණය

නව සමතුලිත මිල රු. 60

නව සමතුලිත ප්‍රමාණය ඒකක 400

b. බද්දට පසු පාරිභෝගිකයා දරණ වියදම

පාරිභෝගිකයා ගෙවන මිල × නව සමතුලිත ප්‍රමාණය

= 60 × 400

රු. = 24000

c. බද්දට පසු නිෂ්පාදක අයභාරය

නිෂ්පාදකයාට ලැබෙන මිල × නව සමතුලිත ප්‍රමාණය

= 30 × 400

රු. = 12 000

d. පාරිභෝගිකයාගේ ඒකක බදු බර

නව සමතුලිත මිල − පැරණි සමතුලිත මිල

= 60 − 40

රු. = 20

e. පාරිභෝගිකයාගේ මුළු බදු බර

පාරිභෝගිකයාගේ ඒකක බදු බර × නව සමතුලිත ප්‍රමාණය

= 20 × 400

රු. = 8000

f. නිෂ්පාදකයාගේ ඒකක බදු බර

බද්ද − පාරිභෝගික ඒකක බදු බර

= ~~50~~ 30 − 20

රු. = 10

g. නිෂ්පාදකයාගේ මුළු බදු බර

නිෂ්පාදකයාගේ ඒකක බදු බර × නව සමතුලිත ප්‍රමාණය

= 10 × 400

රු. = 4000

h. රජයේ බදු අයභාරය

බද්ද × නව සමතුලිත ප්‍රමාණය

= 30 × 400

රු. = 12 000

i. බද්දට පෙර ආර්ථික අතිරික්තය

ආර්ථික අතිරික්තය = (උපරිම ඉල්ලුම් මිලත් අවම හා උපරිම මිලත් අතර වෙනස × සමතුලිත ප්‍රමාණය) / 2

$= \frac{(100 - 10) \times 600}{2}$

$= \frac{90 \times 600}{2}$

= ~~27 000~~ 27 000 //

j. බද්දට පසු ආර්ථික අතිරික්තය

~~ආර්ථික අතිරික්තය = (උපරිම ඉල්ලුම් මිලත් අවම සැපයුම් මිලත් අතර වෙනස × නව සමතුලිත ප්‍රමාණය) / 2~~

= ~~(100 -~~ ~~පාරිභෝගික~~ අතිරික්තය =

(බද්දට පසු)

පාරිභෝගික අතිරික්තය = (උපරිම ඉල්ලුම් මිලත් සමතුලිත මිලත් අතර වෙනස × සමතුලිත ප්‍රමාණය) / 2

$= \frac{(100 - 60) \times 400}{2}$

= 8000 //

අසේල මල්ලිකාරච්චි

½ ... 15 000 //

බද්දට පෙර ආර්ථික අතිරික්තය 27 000
- බද්දට පසු ආර්ථික අතිරික්තය (12 000)
අඩු වන ආර්ථික අතිරික්තය 15 000
- රජයේ බදු ආදායම (12 000)
අහිමි වන ආර්ථික අතිරික්තය 3 000

ආර්ථික අතිරික්තයේ අහිමි වීම යනු සමස්ත සමාජයේ සුබසාධනය අහිමි වීමකි. එය අධි බදු බර, පරිවාරක පිරිවැය, බදු පැනවීමක සුබසාධන පිරිවැය යන විකල්ප නම් වලින්ද හඳුන්වයි. එය පහත දැක්වෙන පිරිදි ද ගණනය කළ හැකිය.

$$\text{අධි බදු බර} = \frac{\text{බද්ද} \times \text{වෙළෙඳපොළ ප්‍රමාණය වෙනස}}{2}$$

$$= \frac{30 \times (600 - 400)}{2}$$

$$= \frac{30 \times 200}{2}$$

$$= 3000$$ //

**08.'අහිමිවන සුබසාධනය' යන්නෙන් කුමක් අදහස් වේදැයි රූප සටහනක් ඇසුරින් පැහැදිලි කරන්න.**

- නිදහස් වෙළෙඳපොළේ සමතුලිට නිමැවුමට වඩා වෙළෙඳපොළ සැපයුම වැඩි හෝ අඩු වීම නිසා අධි නිෂ්පාදන හෝ ඌණ නිෂ්පාදන හට ගැනීමෙන් සිදුවන අකාර්යක්ෂම සම්පත් භාවිතය අහිමිවන සුබසාධනය මගින් පෙන්නුම් කරයි.
- මෙහිදී සිදුවන්නේ ආන්තික පිරිවැය හා ආන්තික ප්‍රතිලාභ අතර වෙනසක් හට ගැනීමෙන් සම්පත් බෙදීයාම අකාර්යක්ෂම වීම නිසා සුබසාධනය හානියට පත් වීමකි.
- අහිමිවන සුබසාධන සංකල්පයෙන් නිෂ්චිතවම පෙන්නුම් කරන්නේ අධි නිෂ්පාදන හෝ ඌණ නිෂ්පාදන හට ගැනීම නිසා පාරිභෝගික හා නිෂ්පාදක අතිරික්තයන්ගේ සිදුවන අඩු වීම පමණි. ඒ සඳහා රජය මැදිහත් වීම නිසා හට ගන්නා බදු බර යනාදිය සැළකිල්ලට නොගන්නා බැවින් සමස්ත සමාජයේ සුබසාධනයට සිදුවන හානිය එයින් පෙන්නුම් නොකරයි.

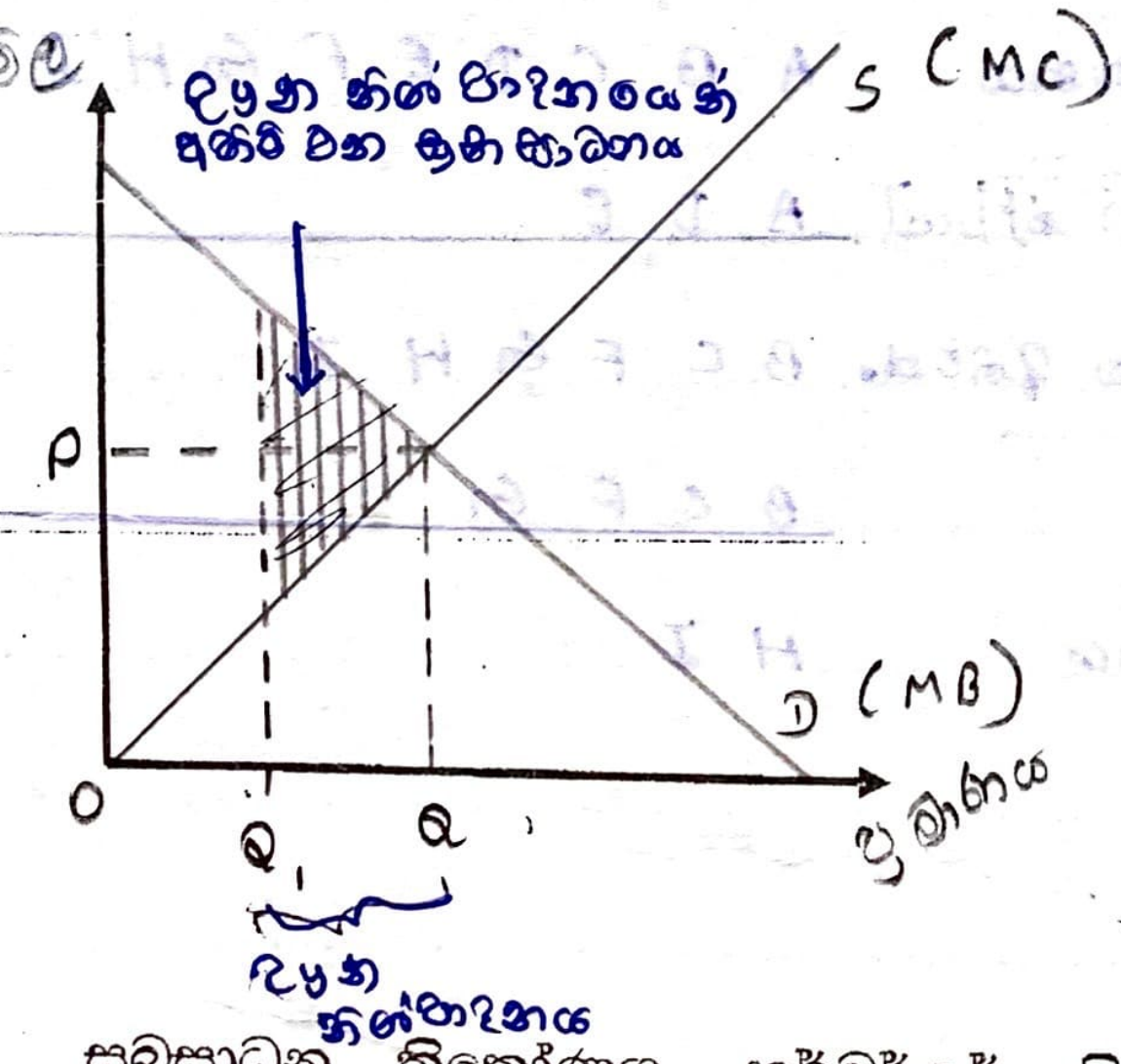


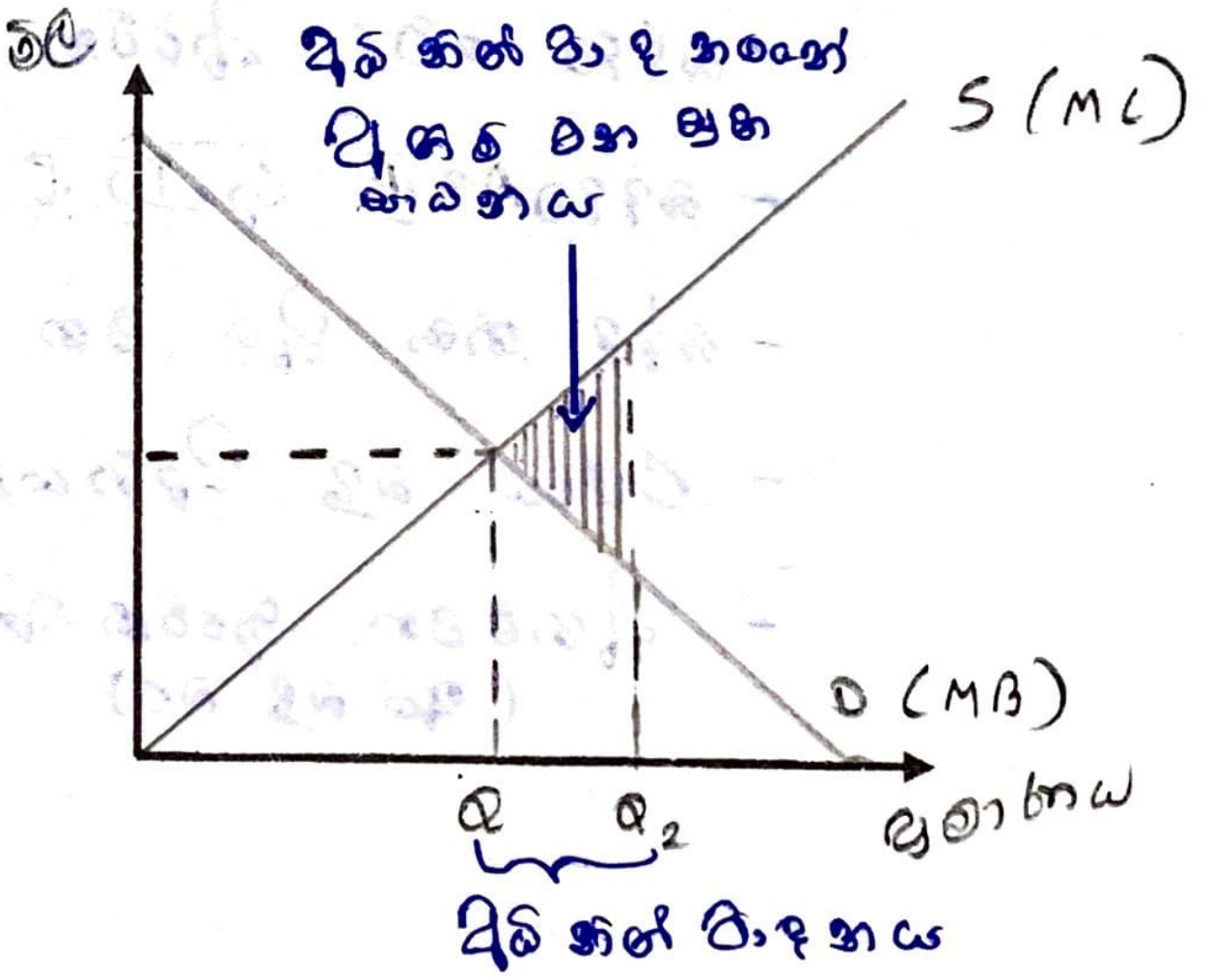


සුබසාධන ත්‍රිකෝණය, හර්බර්ගර් ත්‍රිකෝණය යන නම් වලින් ද අහිමිවන සුබසාධනය හඳුන්වනු ලැබේ.

**09.** බදු පැනවීම නිසා අහිමිවන සමාජ සුබසාධනය/ බදු පැනවීමක ශුභසාධන පිරිවැය/ අධි බදු බර/ පරිවාරක පිරිවැය' රූප සටහන් ඇසුරින් පහදන්න.

- නිදහස් වෙළඳපොලේ කාර්යක්ෂමතාවයට රජය මැදිහත් වී බදු පැනවීම නිසා වෙළඳපොලේ කාර්යක්ෂමතාවය විකෘති වීමෙන් ආර්ථික අතිරික්තයට සිදු වන හානිය අධි බදු බර වේ. * රජයේ බදු ආදායමට එකතු නොවන ආර්ථික අතිරික්තය අහිමි වීමෙන් අධි බදු බර වශයෙනි.

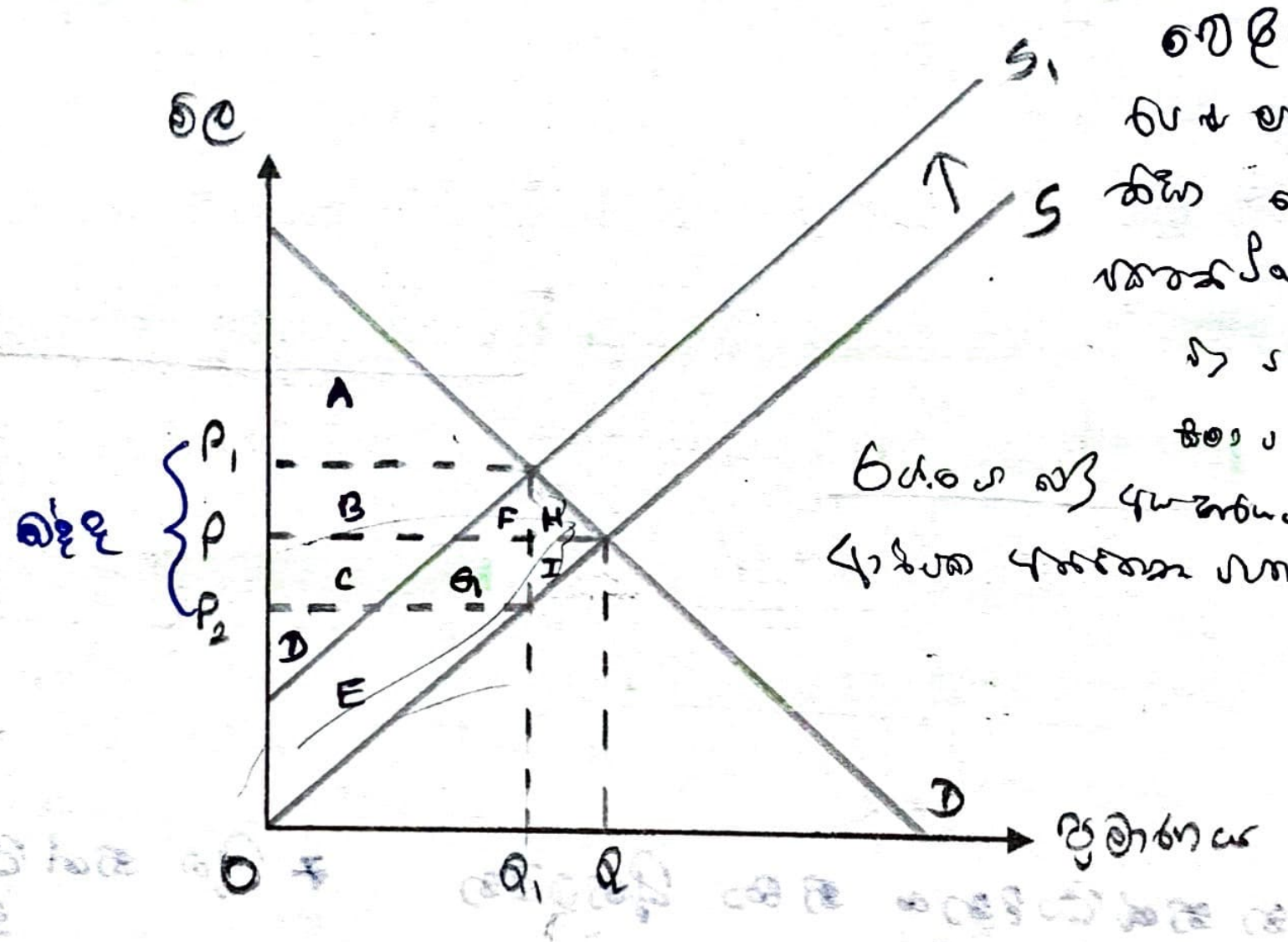


- බද්දට පෙර ආර්ථික අතිරික්තය A B C D E F G H I
- බද්දට පසු ආර්ථික අතිරික්තය A D E
- බද්ද නිසා අඩු වන ආර්ථික අතිරික්ත. B C F G H I
- රජයේ බදු ආදායම B C F G
- අහිමි වන ආර්ථික අතිරික්තය (අධි බදු බර) H I

**10. භාණ්ඩ බද්දක බදු බර පාරිභෝගිකයා සහ නිෂ්පාදකයා අතර බෙදීයාම කිනම් කරුණු මත තීරණය වේ ද?**

- බදු බර බෙදී යාම තීරණය වන්නේ ඉල්ලුම් නම්‍යතාව හා සැපයුම් නම්‍යතාව මතයි.

බද්දක් පැනවීම නිසා සමතුලිත මිල කොතරම් ප්‍රමාණයකින් ඉහළ යනවා ද යන්න ඉල්ලුම් හා සැපයුම් නම්‍යතාවන්ට සම්බන්ධ කොට ගණනය කළ හැකිය.

~~$\Delta P = \left(\frac{ES - Ed}{ES}\right) \times T$~~

$$\Delta P = \left(\frac{ES}{ES - Ed}\right) \times T$$

ES - සැපයුම් නම්‍යතාව

Ed - ඉල්ලුම් නම්‍යතාව

T - බද්ද

DP - මිලෙහි වෙනස (පාරිභෝගික බදු බර)

**11. පහත සඳහන් එක් එක් නම්‍යතා සංයෝජන යටතේ රුපියල් 30 ක් වූ බද්දක බදු ආපාතය තීරණය වන ආකාරය පෙන්වන්න.**

$DP = \left(\frac{ES}{ES - Ed}\right) \times T$

i. ඉල්ලුම් නම්‍යතාව 0 ක් සහ සැපයුම් නම්‍යතාව 1 ක් වන භාණ්ඩයක්.

~~$DP = \left(\frac{ES - Ed}{ES}\right) \times T$~~

~~$DP = \left(\frac{1 - 0}{1}\right) \times 30$~~

~~$DP = 1 \times 30$~~

~~$DP = 30$~~

$DP = \left(\frac{ES}{ES - Ed}\right) \times T$

$DP = \left(\frac{1}{1 - 0}\right) \times 30$

~~පාරිභෝගික බදු බර = 30%~~

~~නිෂ්පාදක බදු බර = 0~~

$DP = \frac{1}{1} \times 30$

~~සම්පූර්ණ බදු බර පාරිභෝගිකයා විසින් දරයි~~ $DP = 30$

පාරිභෝගික බදු බර = 30/=

නිෂ්පාදක බදු බර = 0

**12. පහත සඳහන් එක් එක් නම්‍යතා අවස්ථා යටතේ බදු බර බෙදීයයන ආකාරය දක්වන්න.**

a. පූර්ණ අනම්‍ය ඉල්ලුම

– සම්පූර්ණ බදු බර පාරිභෝගිකයා දරයි.

b. පූර්ණ නම්‍ය ඉල්ලුම

– සම්පූර්ණ බදු බර නිෂ්පාදකයා දරයි.

c. අනම්‍ය සැපයුම

– වැඩි බදු බරක් නිෂ්පාදකයා දරයි.

d. අනම්‍ය ඉල්ලුම හා නම්‍ය සැපයුම

– වැඩි බදු බරක් ~~නිෂ්පාදකයා~~ පාරිභෝගිකයා දරයි.

e. ඒකීය නම්‍ය ඉල්ලුම හා නම්‍ය සැපයුම

– වැඩි බදු බරක් පාරිභෝගිකයා දරයි.

f. නම්‍ය ඉල්ලුම හා නම්‍ය සැපයුම

– බදු බර බෙදී යාම අවිනිශ්චිත වේ.

g. නම්‍ය ඉල්ලුම හා අනම්‍ය සැපයුම

– වැඩි බදු බරක් නිෂ්පාදකයා දරයි.

h. අනම්‍ය ඉල්ලුම හා අනම්‍ය සැපයුම

– බදු බර බෙදී යාම අවිනිශ්චිත වේ.

i. පූර්ණ අනම්‍ය සැපයුම

– සම්පූර්ණ බදු බර නිෂ්පාදකයා දරයි.

**13. පාරිභෝගික සහනාධාර හා නිෂ්පාදන සහනාධාර ලබාදීමක ප්‍රතිවිපාක පැහැදිලි කරන්න.**

- රජය විසින් නිෂ්පාදකයන්ට සහනාධාර ලබා දීම නිසා වෙළඳපොළ සැපයුම වැඩි වීමෙන් භාණ්ඩයේ මිල අඩු වන අතර භාණ්ඩයේ මිල අඩු වීමේ වාසිය පාරිභෝගිකයාට ලැබේ.
- රජය විසින් පාරිභෝගිකයන්ට සහනාධාර ලබා දීම නිසා වෙළඳපොළ ඉල්ලුම වැඩි වීමෙන් භාණ්ඩයේ මිල වැඩි වන අතර භාණ්ඩයේ මිල වැඩි වීමේ වාසිය නිෂ්පාදකයාට ලැබේ.
- අප මෙහිදී සළකා බලන්නේ නිෂ්පාදන සහනාධාර වන අතර එයින් භාණ්ඩයක් සැපයීමේ ශුද්ධ පිරිවැය අඩු වීමයි. මේ නිසා යම් මිලක් යටතේ වැඩිපුර ප්‍රමාණයක් නිපදවීමට නිෂ්පාදකයන්ට හැකිය. ඒ අනුව නිෂ්පාදන සහනාධාරයකින් පසුව සැපයුම් ලේඛනය, සැපයුම් වක්‍රය සහ සැපයුම් සමීකරණය වෙනස් වේ.

**14. රජය විසින් රු. 3 ක ඒකක සහනාධාරයක් ලබාදෙන්නේ නම් පහත සඳහන් දෑ වෙනස්වන අකාරය පෙන්වන්න.**

1. සැපයුම් ලේඛනය වෙනස්වන ආකාරය

| මිල | සැපයුම් ප්‍රමාණය | නව සැපයුම් ප්‍රමාණය |
|---|---|---|
| 3 | 200 | 400 |
| 6 | 400 | 600 |
| 9 | 600 | 800 |
| 12 | 800 | 1000 |
| 15 | 1000 | 1200 |

මිල යනු පාරිභෝගිකයා විසින් නිෂ්පාදකයාට ගෙවන මිල

2. සැපයුම් සමීකරණය වෙනස්වන ආකාරය

(අ) $Qs = -50 + 5p$

$Qs = -50 + 5(P+3)$

$Qs = -50 + 5P + 15$

~~$Qs = -45 + 5P$~~ (-35)

$Qs = -35 + 5P$ //

(ආ) $Qs = 200 + 40p$

$Qs = 200 + 40(P+3)$

$Qs = 200 + 40P + 120$

$Qs = 320 + 40P$ //

3. සැපයුම් වක්‍රය වෙනස්වන ආකාරය

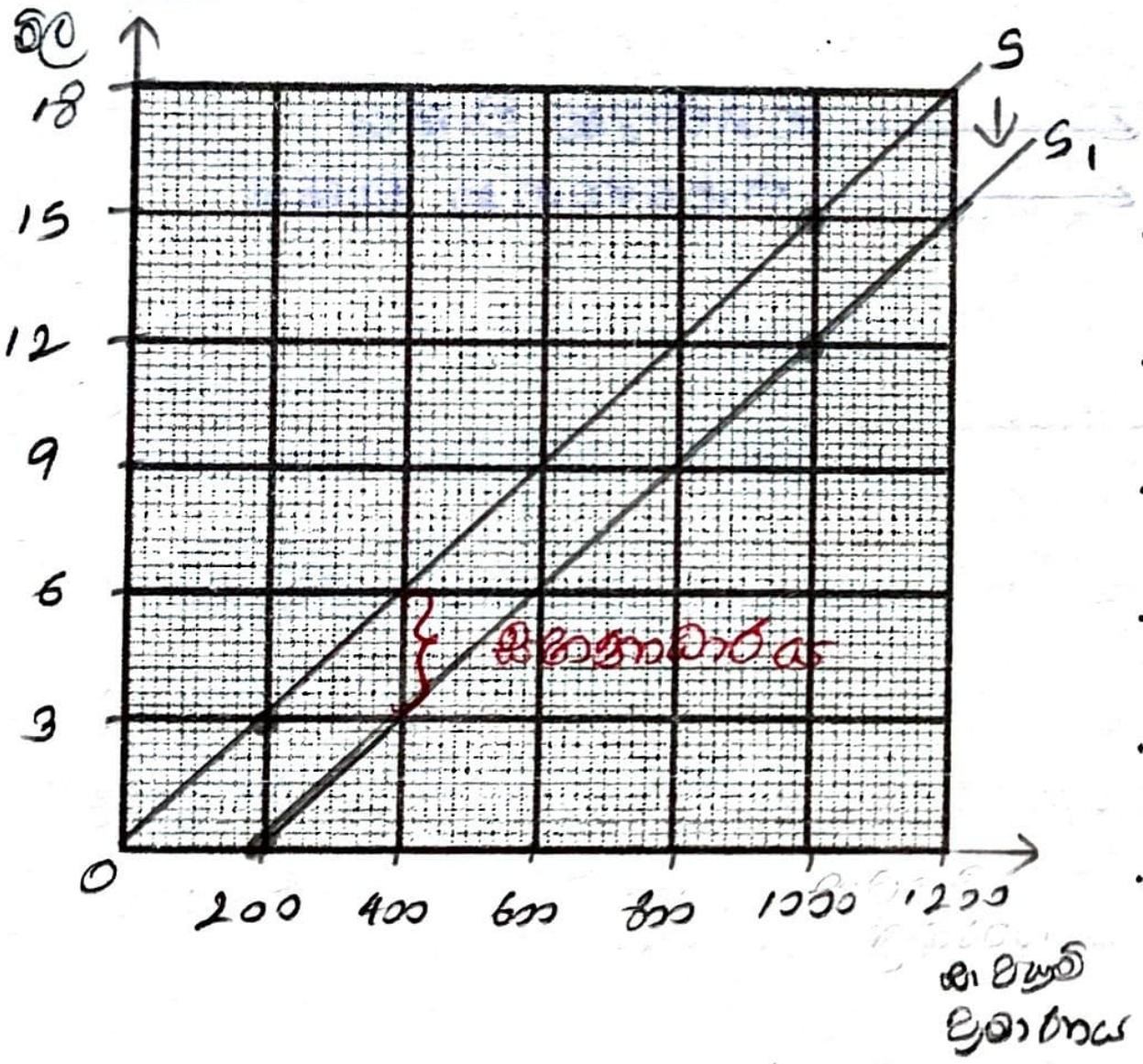


- රජය විසින් නිෂ්පාදකයන්ට ඒකක සහනාධාරයක් ලබාදීම නිසා වෙළඳපොල සැපයුම වැඩි වීමෙන් සැපයුම් වක්‍රය සහනාධාර ඒකක ප්‍රමාණයෙන් දකුණට විතැන් වේ.

**15.** **නිෂ්පාදන සහනාධාරයක වාසිය බෙදීයන ආකාරය රූප සටහනක් ඇසුරින් පෙන්වන්න.**

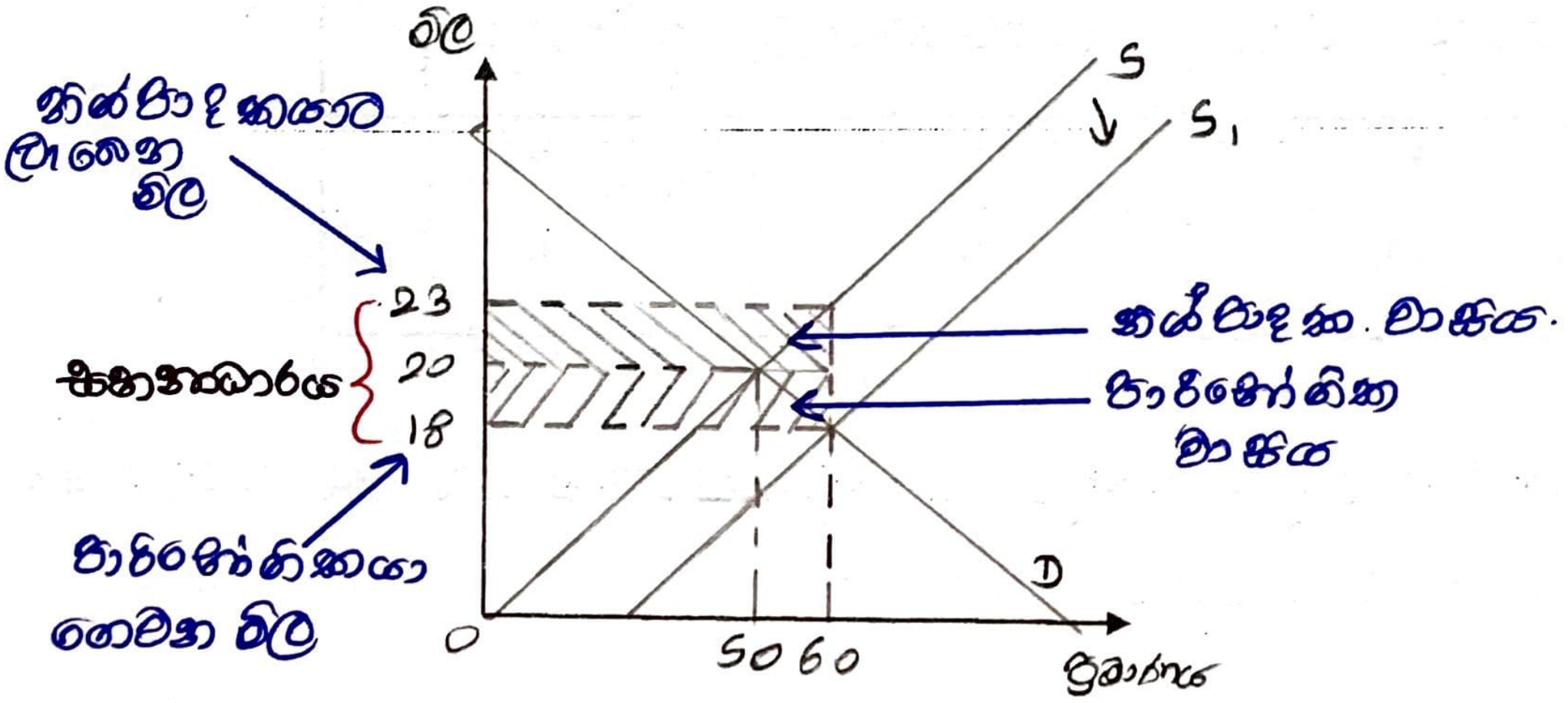

**16.** පාරිභෝගික සහනාධාරයක වාසිය බෙදීයන ආකාරය රූප සටහනක් ඇසුරින් පෙන්වන්න.

— පාරිභෝගික සහනාධාරයක් නිසා වෙළඳපොළ ඉල්ලුම වැඩි වීමෙන් භාණ්ඩයේ මිල වැඩි වන ප්‍රමාණය නිෂ්පාදක වාසිය වන අතර සහනාධාරයේ ඉතිරි කොටස පාරිභෝගික වාසිය වේ.

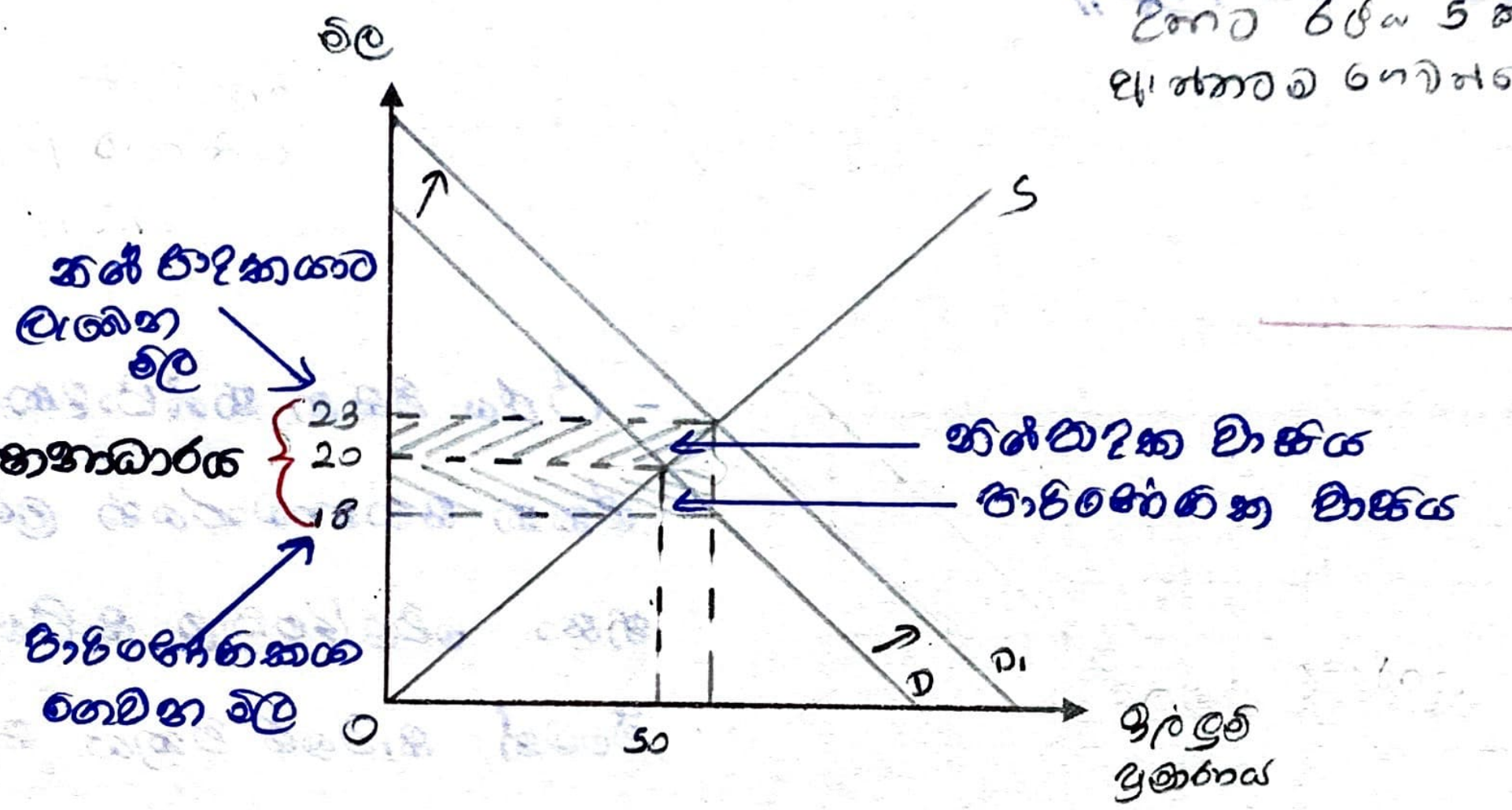


**17.** පොල් සඳහා ඇති තරගකාරී වෙළෙඳපොළක දක්නට ලැබෙන රේඛීය ඉල්ලුම් හා සැපයුම් වක්‍රයන්ට අදාළ ලක්ෂ්‍ය කීපයක් පහත දැක් වේ.

| මිල (ගෙඩියක් රුපියල්) | ඉල්ලුම (දිනකට ගෙඩි) | සැපයුම (දිනකට ගෙඩි) |
|---|---|---|
| 20 | 800 | 0 |
| 70 | 300 | 500 |

i. ප්‍රස්තාර කඩදාසියක වෙළෙඳපොළ ඉල්ලුම් හා සැපයුම් වක්‍ර ඇඳ සමතුලිත මිල හා ප්‍රමාණය නිර්ණය කරන්න.

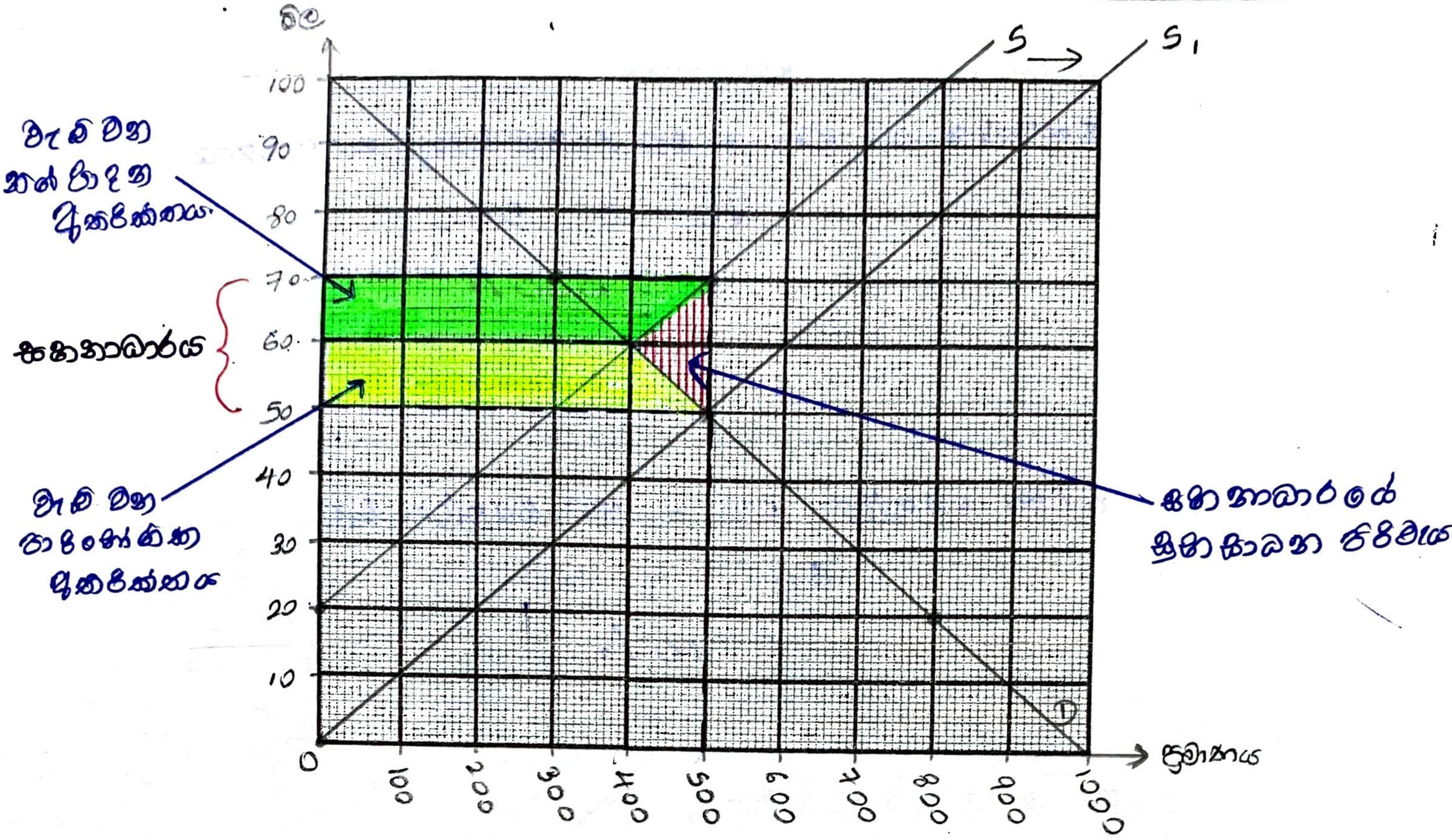


ii. පොල් ගෙඩියකට රුපියල් 20 ක් බැගින් වන විශේෂිත සහනාධාරයක් ආණ්ඩුව විසින් දෙනු ඇතැයි සලකන්න. වෙළෙඳපොළ සමතුලිතය කෙරෙහි මේ නිසා ඇති වන බලපෑම රූපසටහනෙහි පෙන්නුම් කර පහත සඳහන් දෑ ගණනය කරන්න.

a. නව සමතුලිත මිල හා ප්‍රමාණය

මිල = රු. 50

ප්‍රමාණය = ~~පොල් ගෙඩි~~ 500 (ඒකක)

b. සහනාධාරයට පසු පාරිභෝගිකයාගේ වියදම

පාරිභෝගිකයා ගෙවන මිල × නව සමතුලිත ප්‍රමාණය

50 × 500

25000/-

c. සහනාධාරයට පසු නිෂ්පාදක අයභාරය

නිෂ්පාදකයාට ලැබෙන මිල × නව සමතුලිත ප්‍රමාණය

70 × 500

35 000/=

d. පාරිභෝගිකයාගේ ඒකක වාසිය

පාරිභෝගික සමතුලිත මිල - නව සමතුලිත මිල

60 - 50

10/=

e. පාරිභෝගිකයාගේ මුළු වාසිය

ඒකක වාසිය × නව සමතුලිත ප්‍රමාණය

10 × 500

5000/=

f. නිෂ්පාදකයාගේ ඒකක වාසිය

සහනාධාරය - පාරිභෝගික ඒකක වාසිය

20 - 10

10/=

g. නිෂ්පාදකයාගේ මුළු වාසිය

ඒකක වාසිය × නව සමතුලිත ප්‍රමාණය

10 × 500

5000/=

h. රජයේ මූල්‍ය පිරිවැය

සහනාධාරය × නව සමතුලිත ප්‍රමාණය

20 × 500

10000/=

i. සහනාධාරයට පෙර ආර්ථික අතිරික්තය

පාරිභෝගික අතිරික්තය $= \frac{100 - 60}{2} \times 400$

$= 8000/=$

නිෂ්පාදක අතිරික්තය $= \frac{60 - 20}{2} \times 400$

$= 8000/=$

ආර්ථික අතිරික්තය $= 8000 + 8000$

$16000/=$

ඉහළම මිල/මිලත් අවම සැපයුම් මිලත් අතර වෙනස × සමතුලිත ප්‍රමාණය / 2

$\frac{(100 - 20) \times 400}{2}$

$16000/=$

j. සහනාධාරයට පසු ආර්ථික අතිරික්තය

සහනාධාරයට පසු

පාරිභෝගික අතිරික්තය $= \frac{100 - 50}{2} \times 500$

$= 50 \times 250$

$= 12500/=$

නිෂ්පාදක අතිරික්තය ~~$= \frac{70 - 20}{2} \times 500$~~ $(70 \times 500) - \left(\frac{20 + 70}{2}\right) \times 500$

~~$= 50 \times 250$~~ $=$ ~~$57500/=$~~

~~$= 12500/=$~~ $12500/=$

ආර්ථික අතිරික්තය } = පාරිභෝගික අතිරික්තය + නිෂ්පාදක අතිරික්තය

= 12 500 + ~~77 500~~ 12 500

= ~~25 000/-~~ (70)

= 25 000/-

**k.** සහනාධාරය නිසා අහිමිවන ආර්ථික අතිරික්තය (සහනාධාරයේ සුබසාධන පිරිවැය / සමාජ සුබසාධනයට සිදුවුනු හානිය)

ත්‍රිකෝණ ක්‍රමය → අහිමි වන ආර්ථික අතිරික්තය } $= \frac{(500 - 400) \times 20}{2}$

$= \frac{100}{2} \times 20$

= 1000/-

| | |
|---|---|
| සහනාධාරයට පෙර ආර්ථික අතිරික්තය | 16 000 |
| සහනාධාරයට පසු ආර්ථික අතිරික්තය | 25 000 |
| වැඩි වන ආර්ථික අතිරික්තය | 9 000 |
| රජයේ වියදම | 10 000 |
| අහිමි වන ආර්ථික අතිරික්තය | 1 000 |

**18. නිෂ්පාදන සහනාධාරයක් නිසා ශුභසාධනය අහිමි වී යාමක් හටගන්නේ ඇයි? රූප සටහනක් ඇසුරින් පැහැදිලි කරන්න.**

- රජය විසින් නිෂ්පාදන සහනාධාරයක් ලබා දීම පාරිභෝගිකයාට හා නිෂ්පාදකයාට වාසි දායක බැවින් ආර්ථික අතිරික්තය ඉහළ යයි.
- එහෙත් සහනාධාරය වෙනුවෙන් රජයට වියදමක් දැරීමට සිදු වේ.
- සහනාධාර ලබා දීමක් සමාජ ශුභසාධනයට හානිකර වන්නේ වැඩි වන ආර්ථික අතිරික්තයට වඩා රජයේ වියදම විශාල වන බැවිනි.

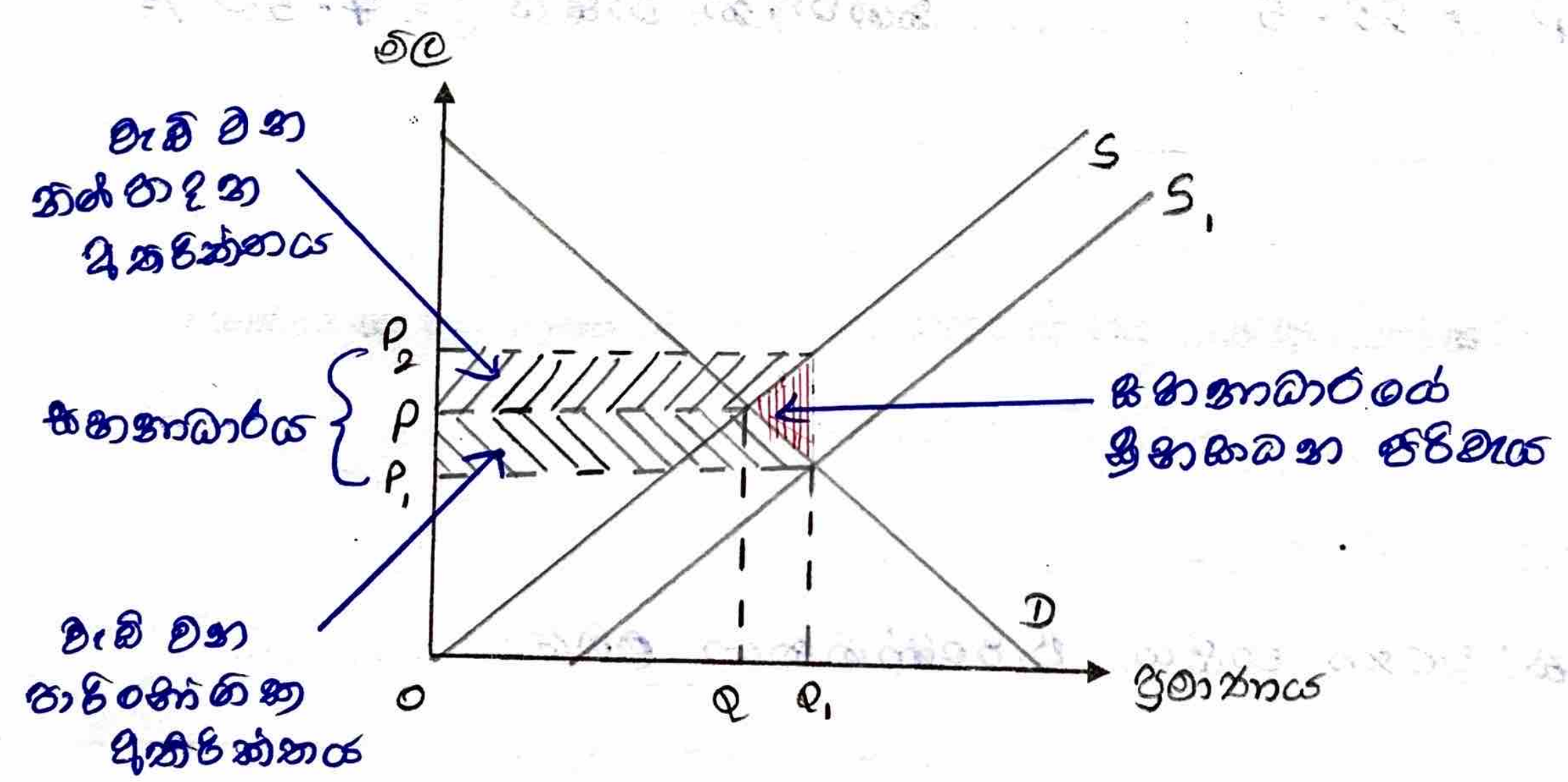


**19. සහනාධාරයක වාසිය නිෂ්පාදකයා හා පාරිභෝගිකයා අතර බෙදීයාම කිනම් කරුණු මත තීරණය වේ ද?**

- සහනාධාරයක වාසිය බෙදීයාම තීරණය වන්නේ ඉල්ලුම නම්‍යතාව හා සැපයුම් නම්‍යතාව මතයි.

**20.ඉල්ලුම් නම්‍යතාව -0.5 ක් සහ සැපයුම් නම්‍යතාව 1.5 ක් වන භාණ්ඩයක් සඳහා රුපියල් 30 ක සහනාධාරයක් ලබාදෙන්නේ නම් සහනාධාරයේ වාසිය බෙදී යන ආකාරය දක්වන්න.**

$DP = \left(\frac{ES}{ES - Ed}\right) \times S$

$DP = \left\{\frac{1.5}{1.5 - (-0.5)}\right\} \times 30$

$DP = \frac{1.5}{2} \times 30$

$DP = 22.5$

පාරිභෝගිකයා වාසිය = 22.5/=

නිෂ්පාදක වාසිය = 7.50/=

**21.එක් එක් නම්‍යතා අවස්ථා යටතේ සහනාධාරයේ වාසිය ... දක්වන්න.**

a. පූර්ණ අනම්‍ය ඉල්ලුම

– සියලු පූර්ණ වාසිය පාරිභෝගිකයා ලබයි.

b. අනම්‍ය ඉල්ලුම හා නම්‍ය සැපයුම

– වැඩි වාසිය පාරිභෝගිකයාට ලැබේ.

c. නම්‍ය ඉල්ලුම හා නම්‍ය සැපයුම

– සහනාධාර වාසිය බෙදීයාම අවිනිශ්චිතයි.

d. පූර්ණ අනම්‍ය සැපයුම

– සියලු පූර්ණ වාසිය නිෂ්පාදකයාට හිමි වේ.

**22.පහත දැක්වෙන වගුව සම්පූර්ණ කරන්න.**

| භාණ්ඩය | ඉල්ලුම් නම්‍යතාව | සැපයුම් නම්‍යතාව | සහනාධාරයේ වාසිය |
|---|---|---|---|
| A | -0.5 අනම්‍ය | 1.5 නම්‍ය | වැඩි වාසිය පාරිභෝගිකයාට |
| B | -1 ඒකීය | 0 පූර්ණ අනම්‍ය | සම්පූර්ණ වැඩි වාසිය නිෂ්පාදකයාට |
| C | -0.6 අනම්‍ය | 0.7 අනම්‍ය | වැඩි වාසිය පාරිභෝගිකයාට |
| D | -0.4 අනම්‍ය | 1 ඒකීය | වැඩි වාසිය පාරිභෝගිකයාට |
| E | -2.1 නම්‍ය | 2.1 නම්‍ය | වාසිය සමානව බෙදේ. |
| F | -2.1 නම්‍ය | 2.2 නම්‍ය | වැඩි වාසිය පාරිභෝගිකයාට |

**23.ශ්‍රී ලංකාව වැනි කුඩා රටක් මුහුණපාන ආනයනික සැපයුම් වක්‍රයේ ස්වභාවය රූප සටහනක් ඇසුරින් පැහැදිලි කරන්න.**

ශ්‍රී ලංකාව වැනි කුඩා රටක් ලෝක වෙළෙඳපොළෙන් මිලට ගන්නේ ඉතා සුළු ප්‍රමාණයකි. එම ප්‍රමාණය අඩු වැඩි කිරීමෙන් ලෝක වෙළෙඳපොළ මිල කෙරෙහි කිසිදු බලපෑමක් සිදුකල නොහැක. එබැවින් කුඩා රටකට අවශ්‍ය ප්‍රමාණය ලෝක වෙළෙඳපොළේ පවත්නා මිල යටතේ (පැවතුණු මිලක් යටතේ) ආනයනය කළ හැකිය. මේ නිසා කුඩා රටක ආනයනික සැපයුම් වක්‍රය ප්‍රමාණ අක්ෂයට සමාන්තර පූර්ණ නම්‍ය ලෙස පිහිටයි.



**24.පහත සඳහන් වෙළෙඳපොළ තත්ත්වය රූප සටහන් ඇසුරින් පෙන්වන්න.**

(1) දේශීය වශයෙන් නිපදවන භාණ්ඩයක් ආනයනය කරන අවස්ථාවක්

(2) දේශීය වෙළෙඳපොළ තුළ සම්පාදනය නොවන භාණ්ඩයක් ආනයනය කරන අවස්ථාවක්

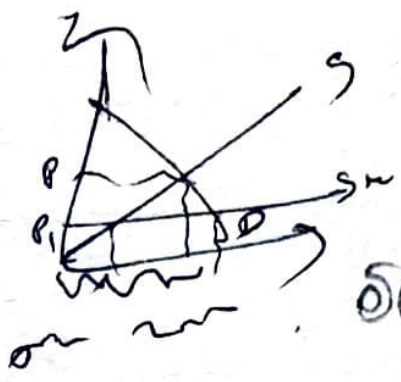

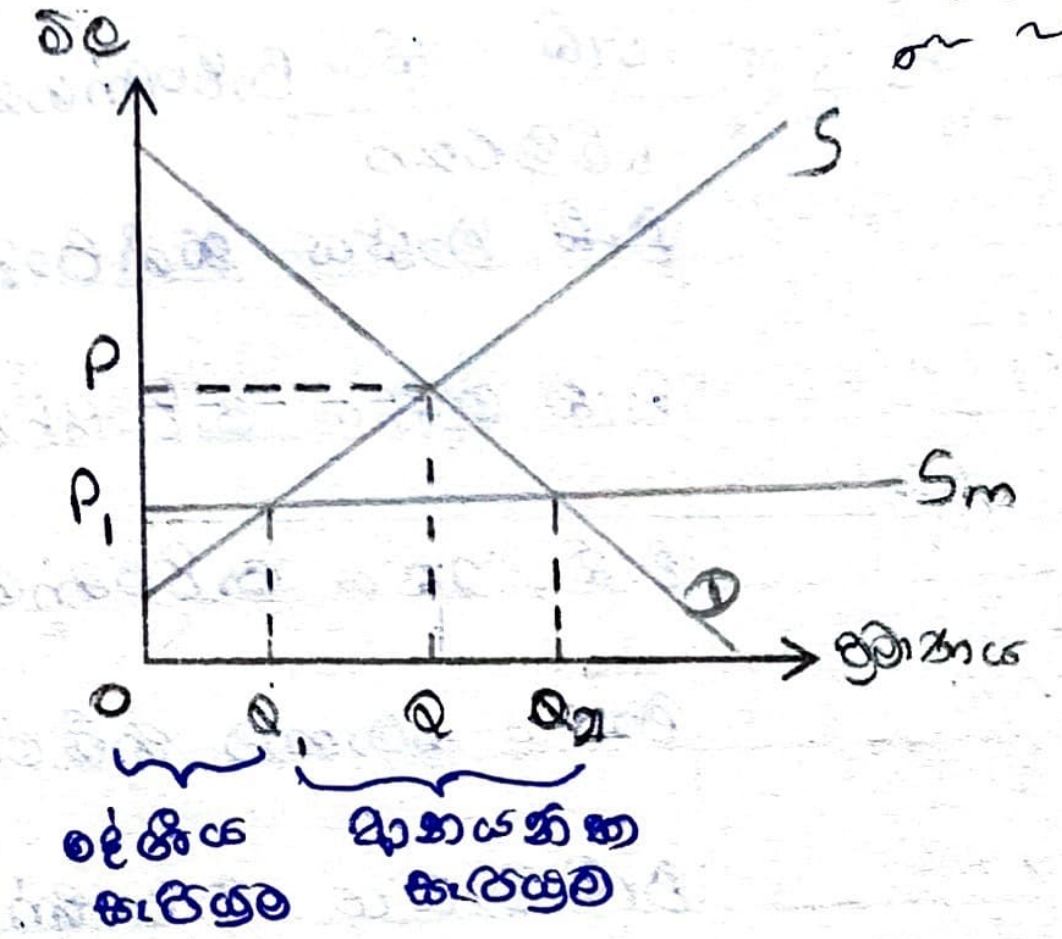


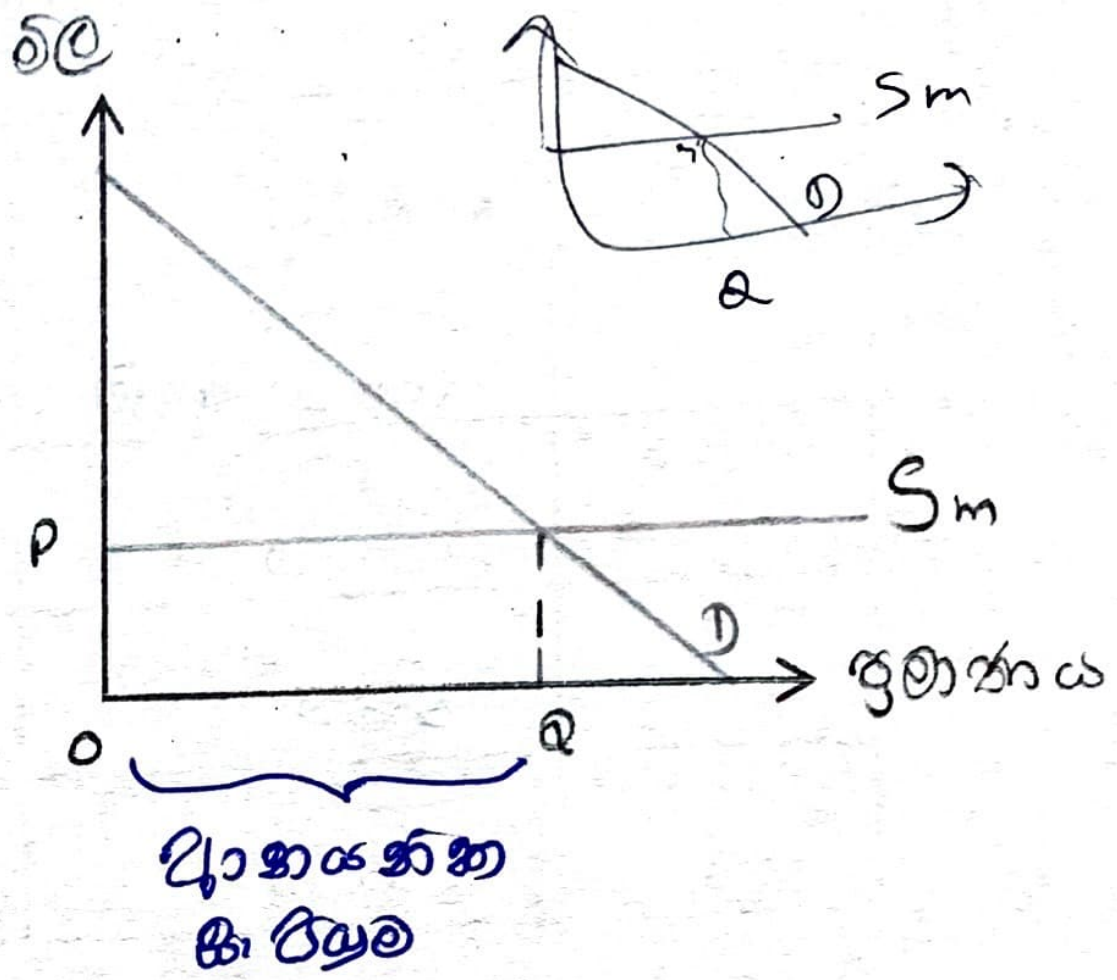


**25.ආනයන මත තීරු බදු පැනවීමක ප්‍රතිවිපාක රූප සටහනක් ඇසුරින් පෙන්වන්න.**

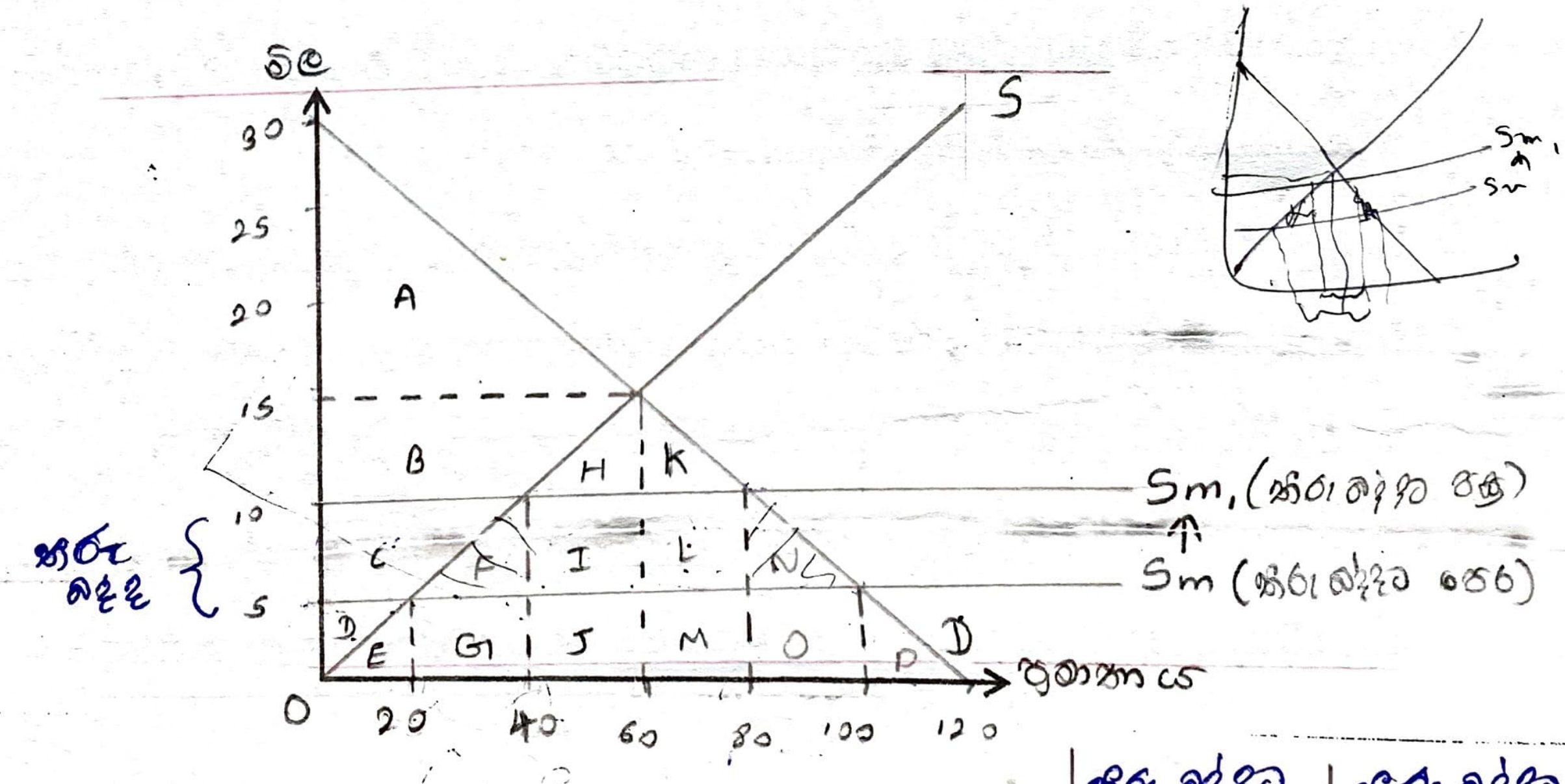


| | තීරු බද්දට පෙර | තීරු බද්දට පසු |
|---|---|---|
| 1. භාණ්ඩයේ මිල | 5 | 10 |
| 2. මුළු ඉල්ලුම | 100 ~~500~~ | 80 ~~800~~ |
| 3. දේශීය සැපයුම | 20 ~~100~~ | 40 ~~400~~ |

| | | |
|---|---|---|
| 4. ආනයනික සැපයුම | ~~400~~ 80 | ~~400~~ 40 |
| 5. රජයේ තීරු බදු ආදායම | ~~0~~ – | ~~400~~ ~~500~~ 200 |
| 6. පාරිභෝගික අතිරික්තය | ABCFHIKLN | ABHK |
| 7. නිෂ්පාදක අතිරික්තය | D | CD |
| 8. ආර්ථික අතිරික්තය | ABCDFHIKLN | ABCDHK |
| 9. රජයේ බදු ආදායම | – | ~~FI~~ ~~LN~~ IL |
| 10. අහිමිවන ආර්ථික අතිරික්තය (තීරුබද්දේ ශුද්ධ පාඩුව) | – | ~~IL~~ FN ~~FILN~~ |

**26.** පහත දැක්වෙන රූප සටහන තරඟකාරී වෙළෙඳපොළක් නිරූපනය කරයි.

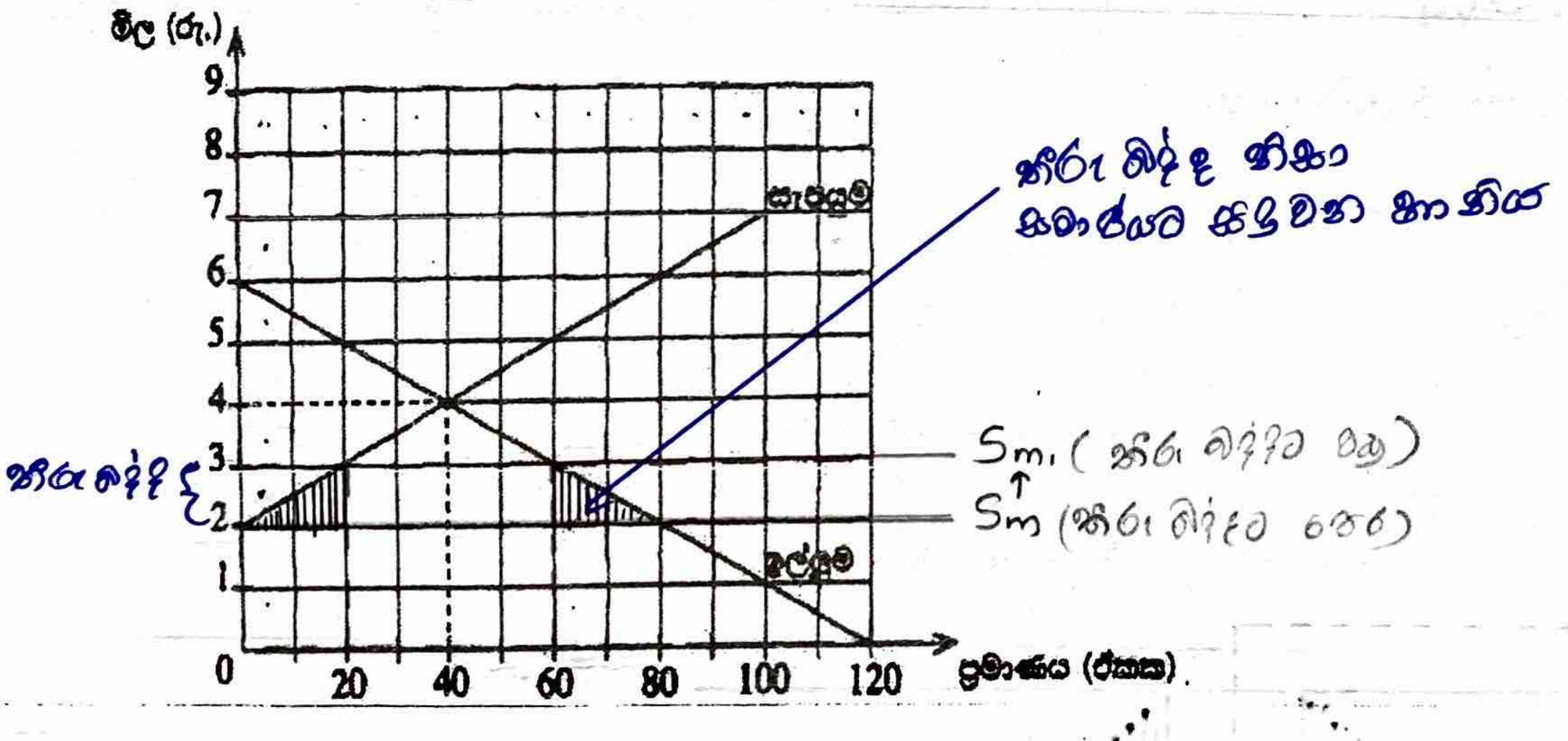


a. මෙම භාණ්ඩය රු. 2 බැගින් නිදහසේ ආනයනය කළ හැකි නම්, ආනයනයෙන් පසු දේශීය සැපයුම සහ ආනයනික සැපයුම සොයන්න.

දේශීය සැපයුම = 0

ආනයනික සැපයුම = 80 (ඒකක)

b. රජය රු. 1 ක ආනයන තීරු බද්දක් පනවන්නේ නම්, රජයේ ආදායම සොයන්න.

රජයේ බදු ආදායම = තීරු බද්ද × ආනයනය කළ ප්‍රමාණය
= 1 × 40
= 40/=

c. ආනයන තීරු බද්දෙන් පසු පාරිභෝගික වියදම සොයන්න.

පාරිභෝගික වියදම = මිල × ඉල්ලුම් ප්‍රමාණය
= 3 × 60
= 180/=

d. ආනයන තීරු බද්දෙන් සමාජයට සිදුවන හානිය රූප සටහනෙහි පෙන්වන්න.

..........

**27.** තරඟකාරී වෙළෙඳපොළක දක්නට ලැබෙන රේඛීය ඉල්ලුම් හා සැපයුම් වක්‍රයන්ට අදාළ රූප සටහනක් පහත දැක්වේ.

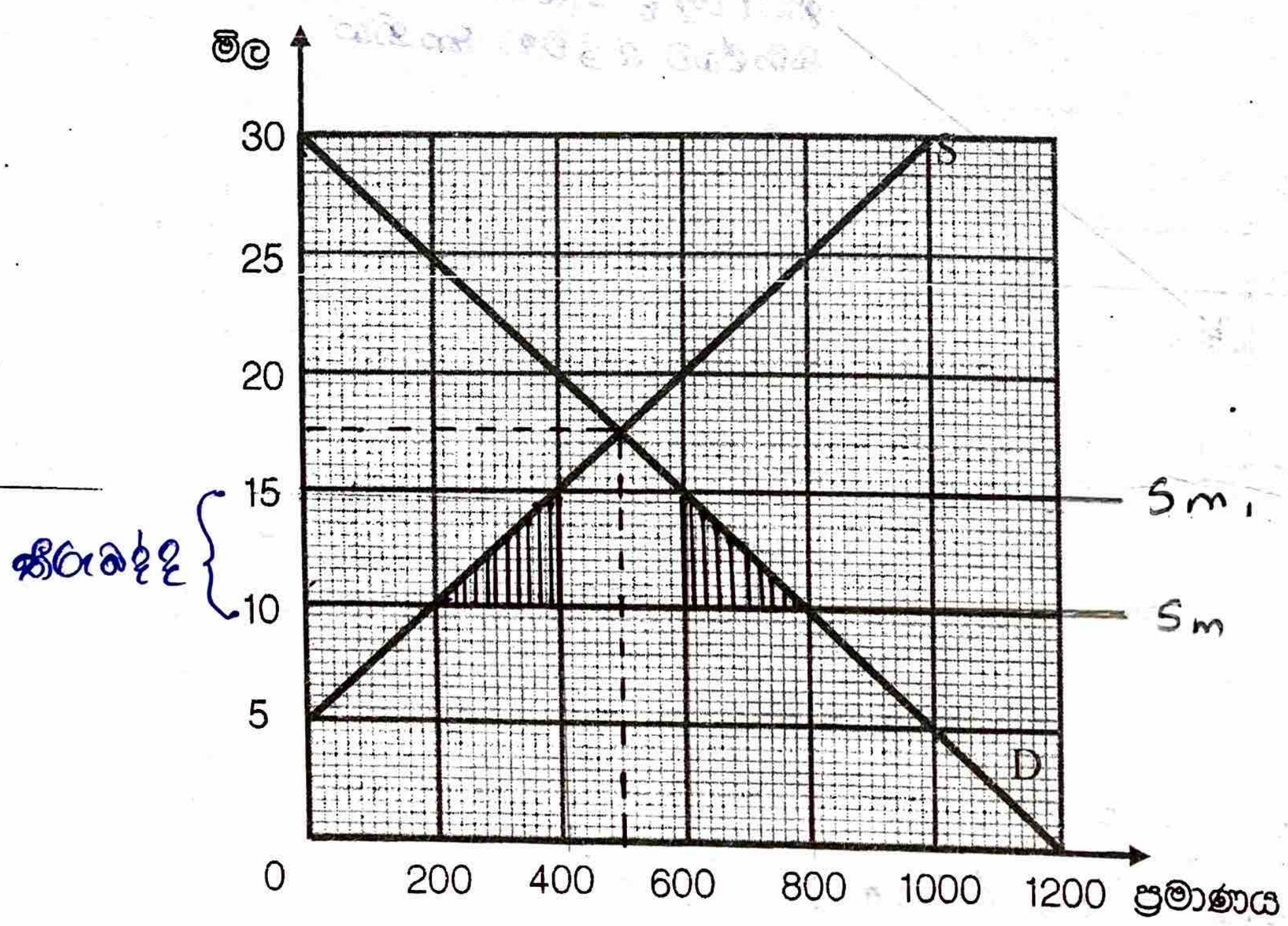

(ඈ) මෙම භාණ්ඩයේ ඒකකයක් රුපියල් 10 බැගින් ලෝක වෙළෙඳපොළෙන් නිදහසේ ආනයනය කළ හැකි නම්, එම තත්ත්වය රූප සටහනෙහි පෙන්වන්න. මෙම තත්ත්වය යටතේ කොතරම් ප්‍රමාණයක් ආනයනය කරන්නේ ද? කොතරම් ප්‍රමාණයක් දේශීය නිෂ්පාදනයෙන් ලබා ගන්නේ ද?

දේශීය සැපයුම = 200 (ඒකක)

ආනයනික සැපයුම = 600 (ඒකක)

(ආ) ආනයනික භාණ්ඩ ඒකකයක් මත රුපියල් 5 බැගින් වූ බද්දක් පැනවීමට රජය තීරණය කරන්නේ නම් නව සමතුලිතය රූප සටහනෙහි පෙන්වන්න. මෙම තත්ත්වය යටතේ කොතරම් ප්‍රමාණයක් ආනයනය කරන්නේ ද? කොතරම් ප්‍රමාණයක් දේශීය නිෂ්පාදනයෙන් ලබා ගන්නේ ද?

ආනයන සැපයුම = 200 (ඒකක)

දේශීය සැපයුම = 400 (ඒකක)

(ඉ) රජයේ තීරු බදු ආදායම කොපමණ ද?

රජයේ තීරු බදු ආදායම = තීරු බද්ද x ආනයනික සැපයුම

= 5 x 200

= 1000/=

(ඊ) තීරු බදු පැනවීමේ ශුභසාධන පිරිවැය ගණනය කරන්න.

තීරු බද්දේ ශුභසාධන පිරිවැය = ඩුහුරු තල ගොටුගේ වර්ගඵලය

$= \left(\frac{5 \times 200}{2}\right) + \left(\frac{5 \times 200}{2}\right)$

$= \left(\frac{1000}{2}\right) + \left(\frac{1000}{2}\right)$

= 500 + 500

= 1000/=

**01. උපරිම මිල නියම කිරීම යනු කුමක් ද? රූප සටහනක් ඇසුරින් උපරිම මිලක ආර්ථික ප්‍රතිවිපාක පහදන්න.**

- නිදහස් වෙළඳපොළේ තීරණය වී ඇති මිල පාරිභෝගිකයාට අසාධාරණ යැයි රජයට හැඟී යන අවස්ථාවේදී සමතුලිත මිලට වඩා පහළ මිලක් නීතියෙන් නියම කිරීම උපරිම මිල නියම කිරීමයි.

- එබැවින්, උපරිම මිල සීමාවක් යනුවෙන් අදහස් කරනුයේ කිසියම් භාණ්ඩයක් හෝ සේවාවක් සඳහා නියම කරන ලද විශේෂිත මිලට වඩා වැඩි මිලකට එම භාණ්ඩ හෝ සේවාව අලෙවිකිරීම නීති විරෝධී ලෙසට සැලකෙන නියෝගයකි.

- අත්‍යවශ්‍ය පාරිභෝගික භාණ්ඩ, මගී ප්‍රවාහන බස් ගාස්තු, පොලී අනුපාතික යනාදිය සඳහා මෙලෙස උපරිම මිල නියම කරනු ලබයි.

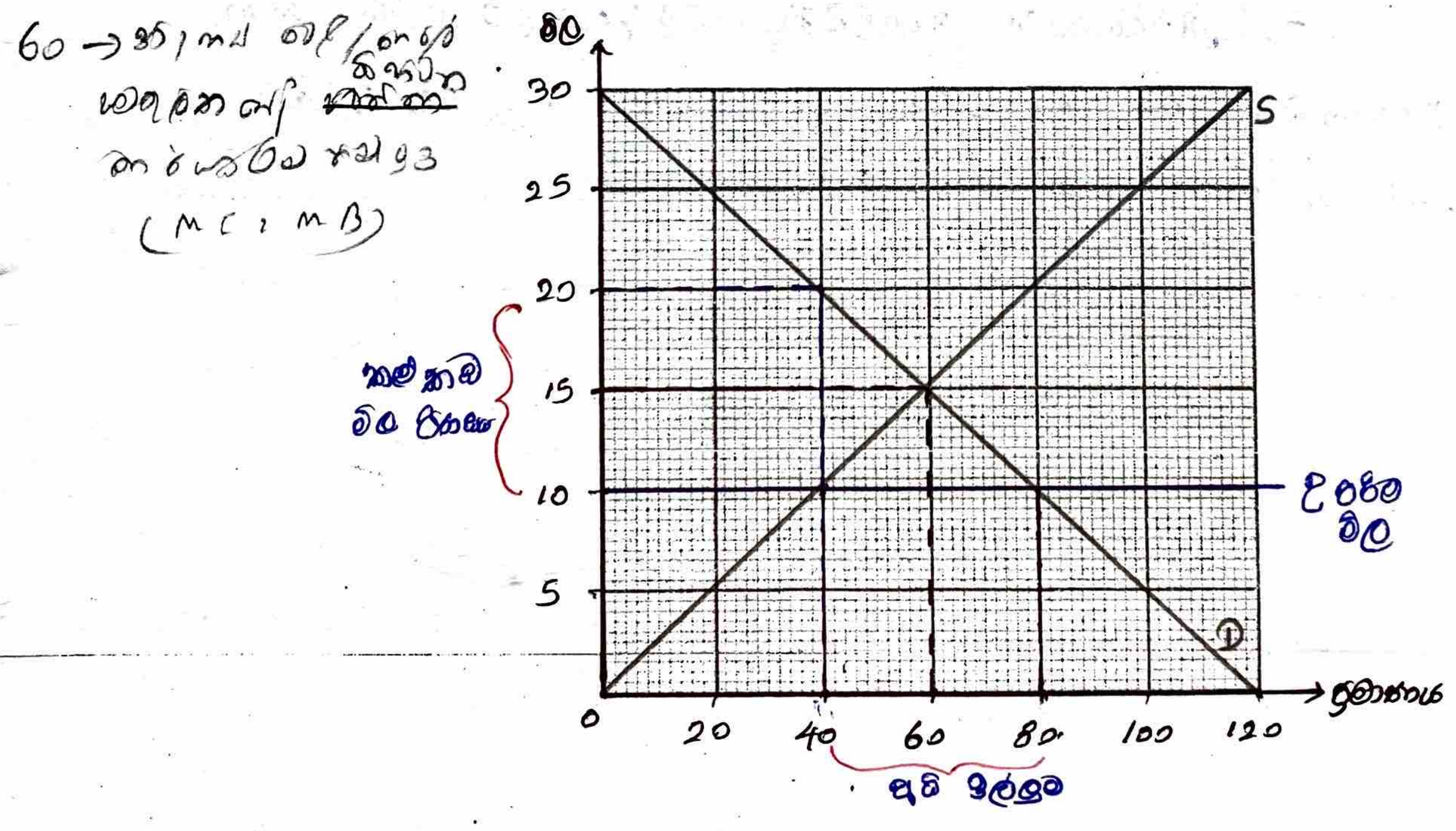


* උපරිම මිලක ආර්ථික ප්‍රතිවිපාක

01. වෙළඳපොළේ භාණ්ඩ හිඟයක් ඇති වීම (අධි ඉල්ලුම නිසා)

02. සලාක කිරීමේ කාර්යය රජයට සිදු කිරීමට සිදු වීම.

03. මිල නොවන සලාකන මාධ්‍යයන් බිහි වීම

I) පෝලිම් ක්‍රමය

II) සලාකන පත් භාවිතය

III) අල්ලස් ලබා දීම

IV) වෙනත් භාණ්ඩයක් සමග සම්බන්ධ කොට අලෙවි කිරීම

V) කළු කඩ ක්‍රමය

04. ආයෝජකයන් අධෛර්යමත් වීම නිසා නිෂ්පාදනය සංකෝචනය වීම

05. ආන්තික පිරිවැය හා ආන්තික ප්‍රතිලාභ අතර වෙනසක් ඇති වීමෙන් සම්පත් බෙදී යාම අකාර්යක්ෂම වීම

06. අහිමි වන සුබ සාධන පිරිහීමක් ඇති කිරීම (MC ≠ MB)

- අකාර්යක්ෂම සම්පත් බෙදීයාම නිසා පාරිභෝගික හා නිෂ්පාදක අතිරික්තයන්ගේ එකතුව අඩු වීම අහිමි වන සුබ සාධනය ලෙස හැඳින්වේ.

**02. උපරිම මිලක් නිසා සුබසාධනය අහිමිවීමක් හටගන්නේ කෙසේදැයි රූප සටහනක් ඇසුරෙන් පැහැදිලි කරන්න.**

- නිදහස් වෙළෙඳපොළේ තීරණය වී ඇති මිල පාරිභෝගිකයාට අසාධාරණ යැයි හැඟී යන අවස්ථාවල දී, රජය මැදිහත් වී සමතුලිත මිලට වඩා පහළ මිලක් නීතියෙන් නියම කිරීම උපරිම මිල ලෙස හැඳින්වේ.

අසේල මල්ලිකාරච්චි

- වෙළෙඳපොළ සමතුලිට මිලට වඩා පහළ මිලක් නියම කිරීම නිසා ඉල්ලුම් ප්‍රමාණය වැඩි වීමත්, සැපයුම් ප්‍රමාණය අඩු වීමත් නිසා වෙළෙඳපොළේ භාණ්ඩ හිඟයක් හට ගැනීම සුබසාධනය අහිමි වී යාමට හේතු වේ.

- නිදහස් වෙළෙඳපොළේ කාර්යක්ෂම සමතුලිත ප්‍රමාණය හා සැසඳීමේ දී ඌන නිෂ්පාදනයක් මගින් අකාර්යක්ෂම නිමවුමක් වෙළෙඳපොළට පිවිසීම නිසා පාරිභෝගික හා නිෂ්පාදක අතිරික්තයන්ගේ සිදුවන අඩු වීම අහිමි වූ සුබසාධනය ලෙස සැළකේ.

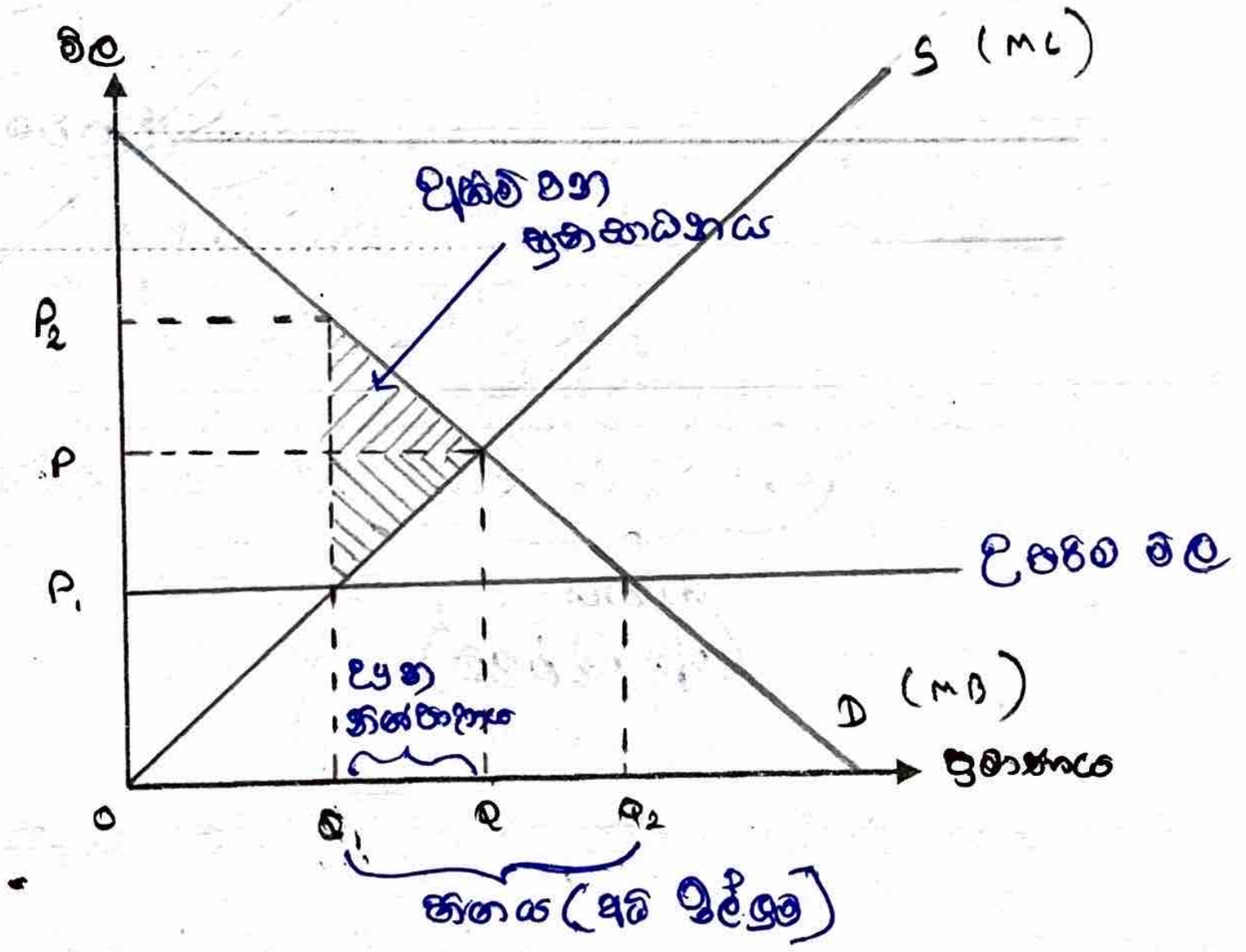


උපරිම මිල නියම කිරීමෙන් පසු වෙළෙඳපොළේ සැපයුම Q සිට $Q_1$ දක්වා අඩු වීමෙන් ඌන නිෂ්පාදනයක් සිදුවේ. එය Q සිට $Q_1$ දක්වා සෑම ඒකකයකම ආන්තික පිරිවැය සහ ආන්තික ප්‍රතිලාභ අසමාන වීම නිසා සමාජයේ කාර්යක්ෂමතාවයට හානියක් සිදු වේ. ඌන නිෂ්පාදන හට ගැනීම නිසා පාරිභෝගික හා නිෂ්පාදක අතිරික්තයන් අඩු වීම නිසා අහිමි වන සුබසාධනය [illegible] ලෙස හඳුන්වයි.

---- 2024 Revision ----

**03.තරඟකාරී වෙළෙඳපොළකට අදාල තොරතුරු පහත දැක්වෙන ප්‍රස්ථාරය මගින් පිළිබිඹු කරයි.**

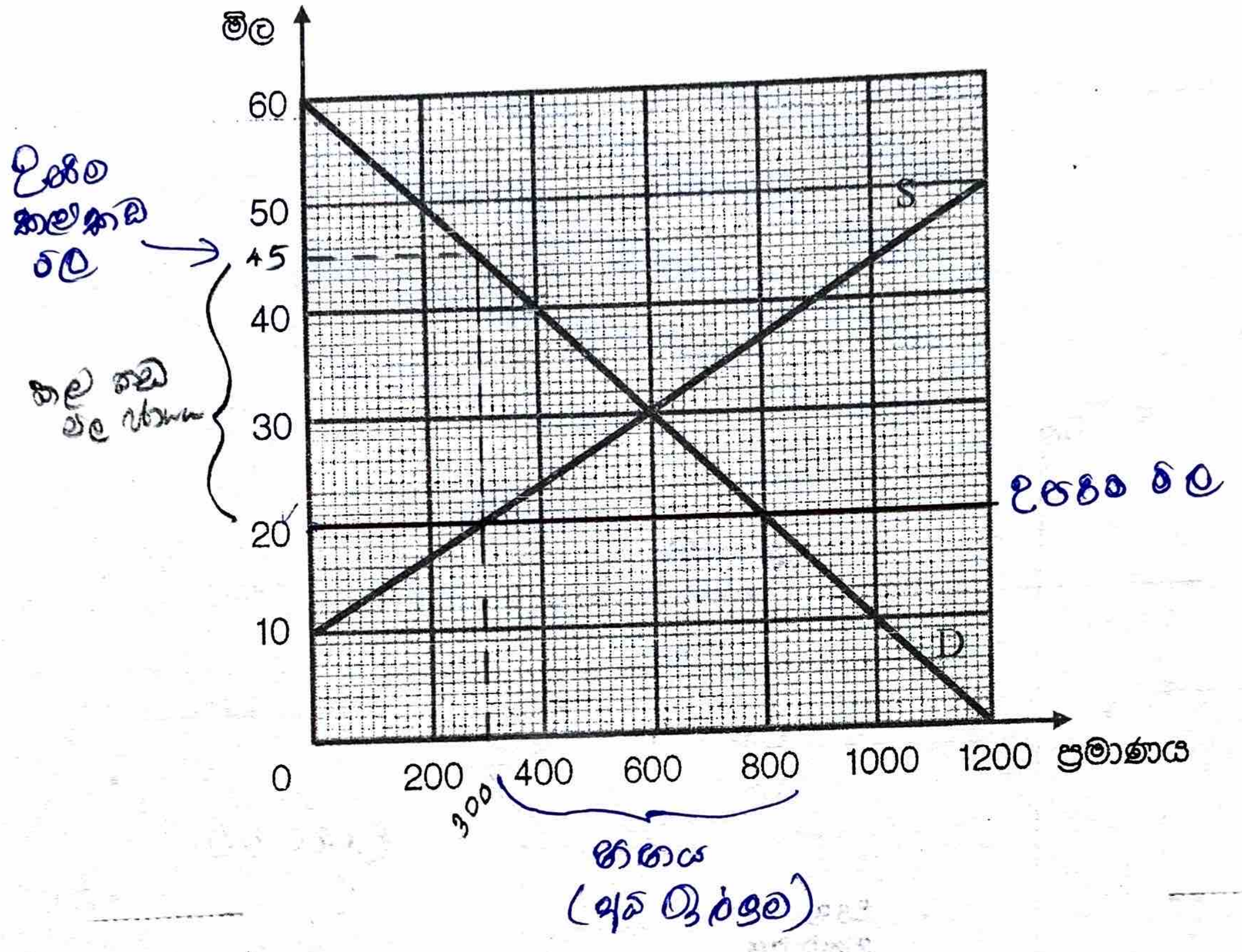


(i) රජය විසින් මෙම භාණ්ඩයේ ඒකකයක් සඳහා රුපියල් 20 ක උපරිම මිලක් නියම කරන්නේ නම් එම තත්ත්වය රූප සටහනෙහි පෙන්වා පහත සඳහන් දෑ ගණනය කරන්න.

- භාණ්ඩ හිඟය ........ඒකක 500........
- උපරිම කළුකඩ මිල ........රු. 45........
- කළු කඩ තත්ත්වයක් ඇති නොවුයේ නම් පාරිභෝගික වියදම

  ........20 X 300 = 6000/=........
- කළු කඩ තත්ත්වයක් ඇති වූයේ නම් පාරිභෝගික වියදම

  ........45 X 300 = 13500/=........

(ii) උපරිම මිල නියම කිරීම නිසා අහිමිවන සුබසාධනය කොපමණ ද?

* 300 - 600 අතර සෑම ඒකකයකම MC සහ MB අතර වෙනස මෙහිදී ගණනය කළ යුතුයි

අහිමි වන සුබසාධනය $= \frac{(45-20) \times (600-300)}{2}$

$= \frac{25 \times 300}{2}$

$= 3750$/=

(iii) උපරිම මිල නියම කිරීම නිසා අහිමිවන ආර්ථික අතිරික්තය කොපමණ ද?

උපරිම මිලට පෙර ආර්ථික අතිරික්තය $= \frac{(\text{උපරිම ඉල්ලුම මිල} - \text{අවම සැපයුම මිල})}{2} \times$ සමතුලිත ප්‍රමාණය

$= \frac{60-10}{2} \times 600$ (300)

$= 15000$/=

උපරිම මිල යටතේ ආර්ථික අතිරික්තය $= \frac{(\text{උපරිම ඉල්ලුම් මිල} - \text{සමතුලිත මිල})}{2} \times$ සමතුලිත ප්‍රමාණය

$= \frac{60-45}{2} \times 300$ (150)

$= 2250$/=

උපරිම මිලට පසු නිෂ්පාදක අතිරික්තය = අලෙවි මිල - (අවම සැපයුම් මිල) - මුළු වියදම

$= (20 \times 300) - \left(\frac{10 + 20}{2}\right) \times 300$

$= 6000 - (15 \times 300)$

$= 6000 - 4500$

$= 1500/=$

II ක්‍රමය

$\frac{10 \times 300}{2}$

උපරිම මිලෙන් පසු සමාජ අතිරික්තය = නිෂ්පාදක අති. + පාරිභෝගික අති.

$= 2250 + 1500$

$= 3750$

අඩු වන සමාජ අතිරික්තය $= 15000 - 3750$

$= 11250/=$

**04.** **අවම මිල නියම කිරීම යනු කුමක් ද? රූප සටහනක් ඇසුරින් එහි ආර්ථික ප්‍රතිවිපාක පහදන්න.**

- නිදහස් වෙළඳපොලේ තීරණය වී ඇති මිල නිෂ්පාදකයාට අසාධාරණ යැයි රජයට හැඟී යන අවස්ථාවේදී සමතුලිත මිලට වඩා ඉහළ මිලක් නීතියෙන් නියම කිරීම අවම මිල නියම කිරීමයි.

- ඒ අනුව අවම මිල සීමාවක් යනුවෙන් අදහස් කරනුයේ කිසියම් භාණ්ඩයක් හෝ සේවාවක් සඳහා නියම කරන ලද විශේෂිත මිලට වඩා අඩු මිලක් ගෙවීම නීති විරෝධී ලෙසට සැළකෙන නියෝගයකි.

- වී, එළ කිරි වැනි භාණ්ඩ සඳහා බොහෝ විට අවම මිල නියම කරනු ලබන අතර, ශ්‍රමය සඳහා නියම කරන අවම වැටුප ද මීට අයත් වේ.

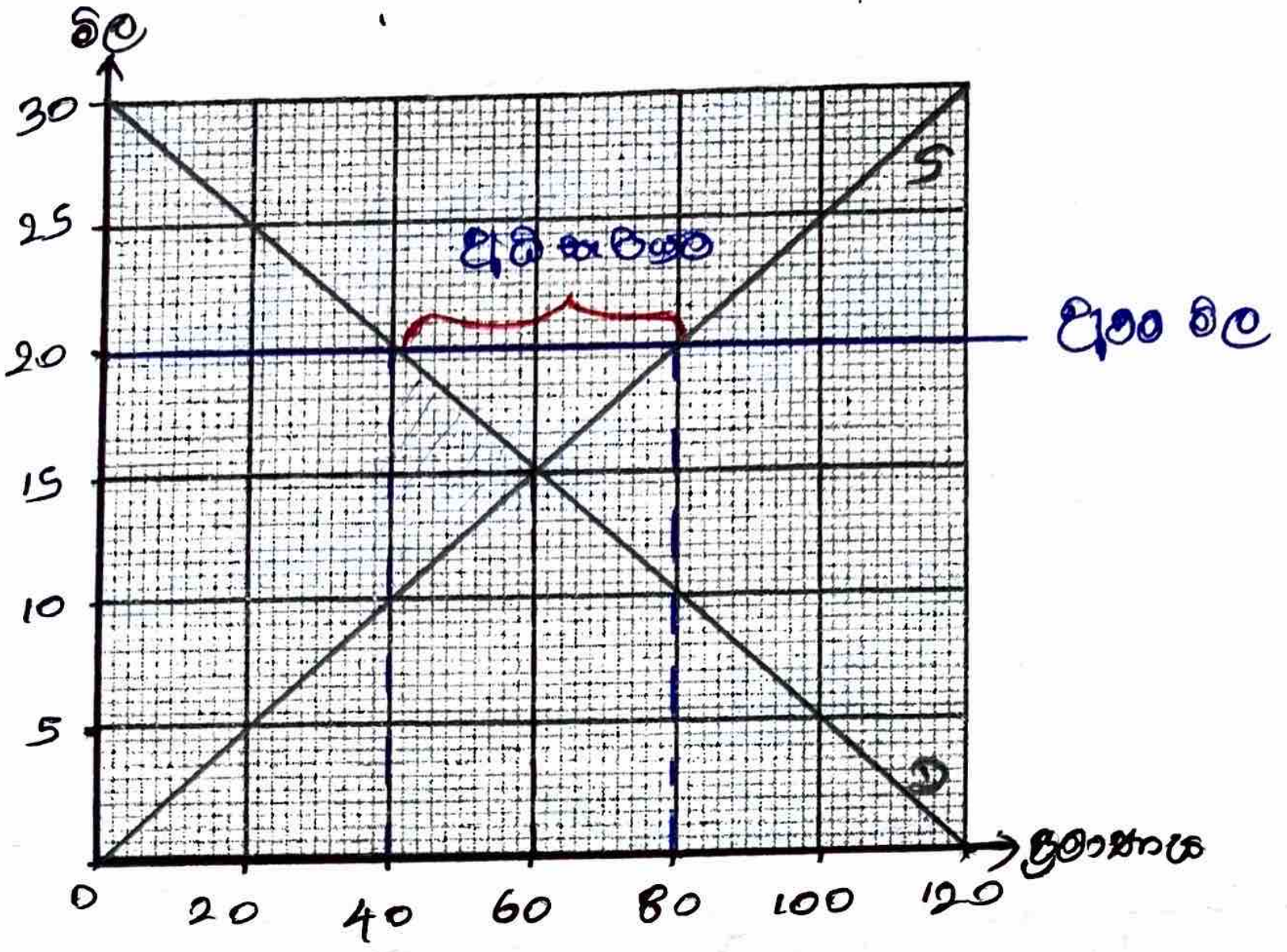


[illegible]

* අවම මිල නියම කිරීමේ අහිතකර ප්‍රතිඵල

01. වෙළඳපොළේ නොවිකුණුණු අතිරික්තයක් ඇති වීම (අධි සැපයුම නිසා)

02. අලෙවි කිරීමේ කාර්ය ඉටු කිරීම රජට අපහසු වීම

03. මිල නොවන සලාකන ක්‍රම බිහි වීම

I) කෝටා කිරීම

II) අනුග්‍රහය කිරීම

III) අතුරු නිෂ්පාදන බිහි කිරීම

IV) අලෙවි ප්‍රවර්ධන ක්‍රම භාවිත කිරීම

04. අයෝග්‍ය ආකාරයෙන් කාර්යක්ෂමතාව ප්‍රශ්නගත වීම

05. නීතිය ලිහිල් දිගු කාලයේ අවම මිලට වඩා අඩු මිලකට භාණ්ඩ අලෙවි කිරීම

06. පසු කලෙක අවම මිල අහෝසි කිරීම නිසා විරෝධතා හට ගැනීම

07. ආන්තික පිරිවැය හා ආන්තික ප්‍රතිලාභ අසමාන වීමෙන් සම්පත් වෙන් කිරීම අකාර්යක්ෂම වීම

08. අතිරික්ත ගබඩා කිරීමට ගබඩා පිරිවැයක් හට ගැනීම

**05.පහත රූප සටහන අවම මිල නියම කළ වෙළෙඳපොළ තත්ත්වයක් නිරූපණය කරයි.**

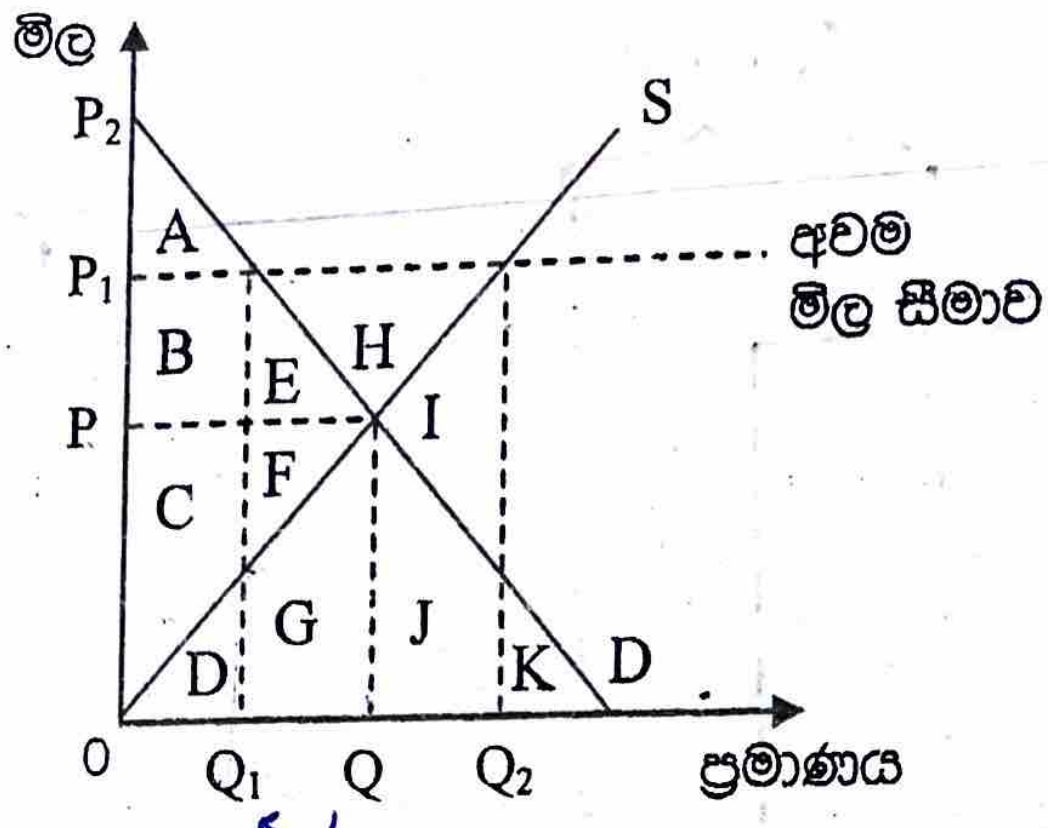


* TR – TVC

BC D – D

= BC

| | අවම මිලට පෙර | අවම මිලට පසු | වෙනස |
|---|---|---|---|
| පාරිභෝගික අතිරික්තය | A B E | A | – B E |
| නිෂ්පාදක අතිරික්තය | C F | B C | +B – F |
| ආර්ථික අතිරික්තය | A B C E F | A B C | – E F |
| අහිමිවන සුබසාධනය | | | E F |

**06.තරගකාරී වෙළෙඳපොළක ඉල්ලුම් ශ්‍රිතය, QD= 180-2P සමීකරණයෙන් ද, සැපයුම් ශ්‍රිතය QS= -15+P සමීකරණයෙන් ද දැක්වේග මෙම වෙළෙඳපොළෙහි භාණ්ඩ ඒකකයක් රුපියල් 72 ක් ලෙස අවම මිලක් නියම කරනු ලැබුවහොත්, එහි ප්‍රතිඵලයක් වශයෙන් අහිමිවන සුබසාධනයේ ප්‍රමාණය ගණනය කරන්න.**

නිදහස් වෙළඳපොළ සමතුලිත මිල හා ප්‍රමාණය

QD = QS

180 – 2P = –15 + P

180 + 15 = 2P + P

195/3 = 3P/3

65 = P

සමතුලිත මිල රු. 65

Qd = 180 – 2P

Qd = 180 – 2 × 65

Qd = 180 – 130

Qd = 50

සමතුලිත ප්‍රමාණය ඒකක 50

Qd - අවම මිල යටතේ වෙළඳපොළ ඉල්ලුම | ප්‍රමාණය 36 දී සැපයුම් මිල

$Q_d = 180 - 2P$ | $Q_s = -15 + P$

$Q_d = 180 - 2 \times 72$ | $36 = -15 + P$

$Q_d = 180 - \sout{174}\ 144$ | $36 + 15 = P$

$Q_d = 36$ | $51 = P$

බර පාඩුව

$= \frac{21 \times 14}{2}$

$= 147$

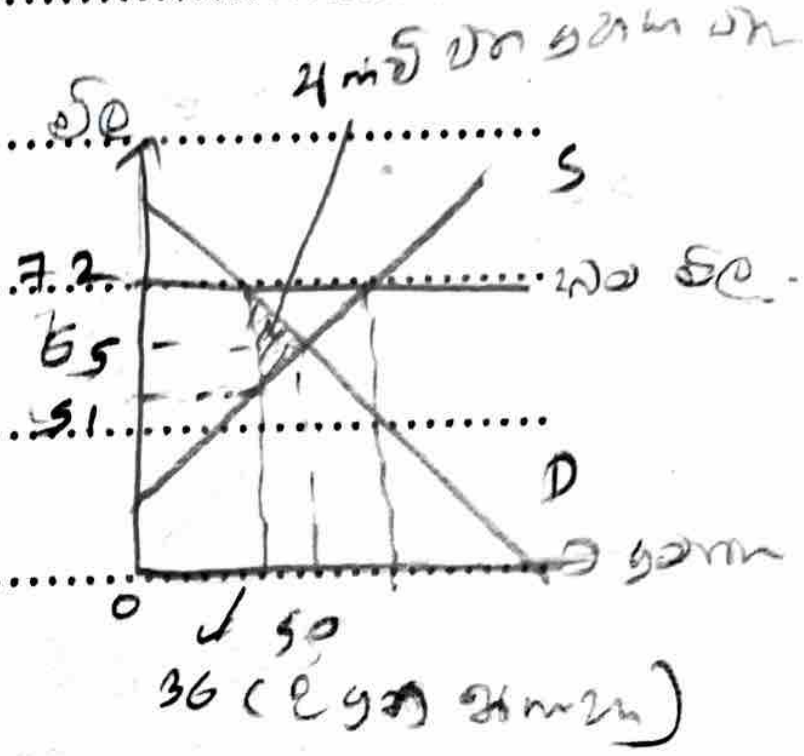

**07. අවම මිලක් නිෂ්පාදකයාට වාසි සලසන්නේ නම්, අවම මිල ආර්ථික අතිරික්තය අඩු කරන්නේ ඇයි ? රූපසටහන් යොදා ගනිමින් ඔබේ පිළිතුර පැහැදිලි කරන්න.**

- සමතුලිත මිලට වඩා ඉහළ මිලක් අවම මිලක් වශයෙන් රජය ප්‍රකාශය පත් කරනු ලැබුවහොත්, සමතුලිත මිලට වඩා ඉහළ මිලක් ලබාගත හැකි බැවින් නිෂ්පාදකයාට ප්‍රතිලාභයක් ලැබේ. මෙහිදී නිෂ්පාදක අතිරික්තය ඉහළ යන අතර, පාරිභෝගික අතිරික්තය පහළ වැටේ.

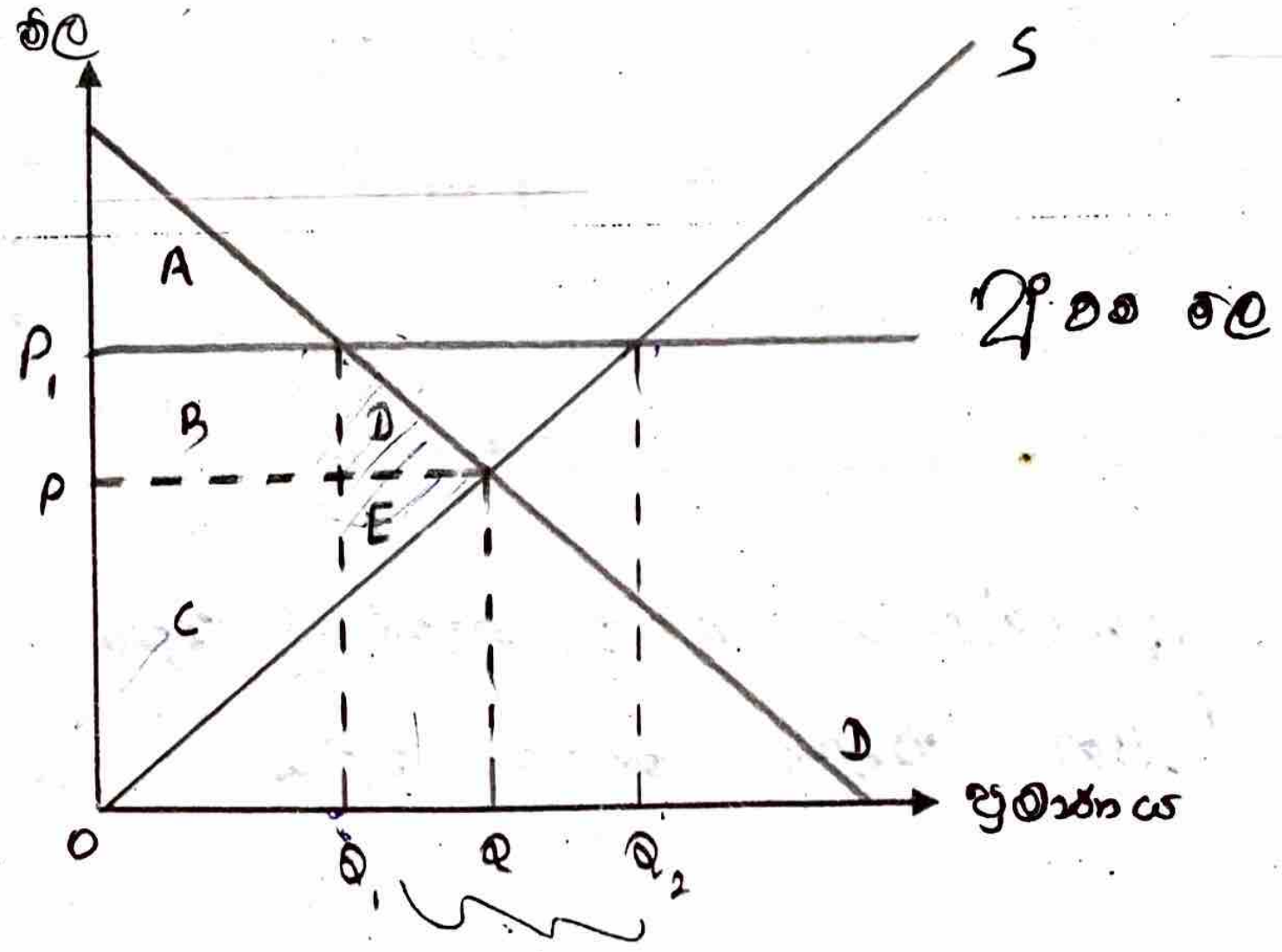

- වෙළෙඳපොළ සමතුලිත මට්ටමට ඉහළ මිලක් අවම මිල වශයෙන් ප්‍රකාශ කළ විට වෙළෙඳපොළේ ඉල්ලුම් කරනු ලබන ප්‍රමාණයට වඩා වැඩි සැපයුම් ප්‍රමාණයක් දක්නට ලැබේ. එසේ වුවද රජය ප්‍රකාශයට පත් කළ අවම මිලට වඩා වෙළෙඳපොළේ මිල පහළ බැසීමට ද ඉඩක් නොමැත. අවම මිල යටතේ පාරිභෝගිකයන් ඉල්ලුම් කරනුයේ ...$Q_1$... ප්‍රමාණය පමණක් බැවින් සැපයුම ද එම ප්‍රමාණයට සීමා කිරීමට නිෂ්පාදකයන්ට සිදු වේ. එහි ප්‍රතිඵල වශයෙන් රූප සටහනෙහි දැක්වෙන ආකාරයට ...D E... ප්‍රමාණයේ සුබසාධනය අහිමිවීමක් හටගනී.

අවම මිලට පෙර ආර්ථික අතිරික්තය ...A B C D E...

අවම මිලට පසු ආර්ථික අතිරික්තය ...A B C...

අවම මිල නිසා ආර්ථික අතිරික්තයේ අඩු වීම ...D E...

අවම මිලෙන් පසු [illegible] D E අඩු වෙනවා

**08. 'අවම මිල' සහ 'සහතික මිල' අතර වෙනස පහදන්න.**

- අවම මිල ප්‍රතිපත්තියක දී භාණ්ඩයක් අලෙවි කළ හැකි අවම මිල නීතියෙන් නියම කිරීමක් පමණක් සිදු වේ.

- සහතික මිල ප්‍රතිපත්තියක දී රජය විසින් නියම කරන අවම මිල පවත්වා ගැනීම සඳහා ආධාරකයක් ලෙස රජය ක්‍රියාවට නංවන ප්‍රතිපත්තියක් ක්‍රියාත්මක වේ. එබැවින් සහතික මිල ප්‍රතිපත්ති මිල ආධාරක ප්‍රතිපත්ති ලෙස ද හඳුන්වයි.

- බොහෝ රටවල ගොවි ජනතාවගේ ආදායම් ඉහළ නැංවීමේ අරමුණින් රජය විසින් භාවිතා කරන සහතික මිල ප්‍රතිපත්ති දෙකකි.

01. ...අතිරික්තය මිලට ගැනීමේ ක්‍රමය...

02. ...ඌන ප්‍රමාණ ගෙවීම් ක්‍රමය...

**09.'අතිරික්ත සැපයුම මිලට ගැනීමේ ක්‍රමය' ක්‍රියාත්මක කරන ආකාරය රූප සටහනක් ඇසුරින් පහදන්න.**

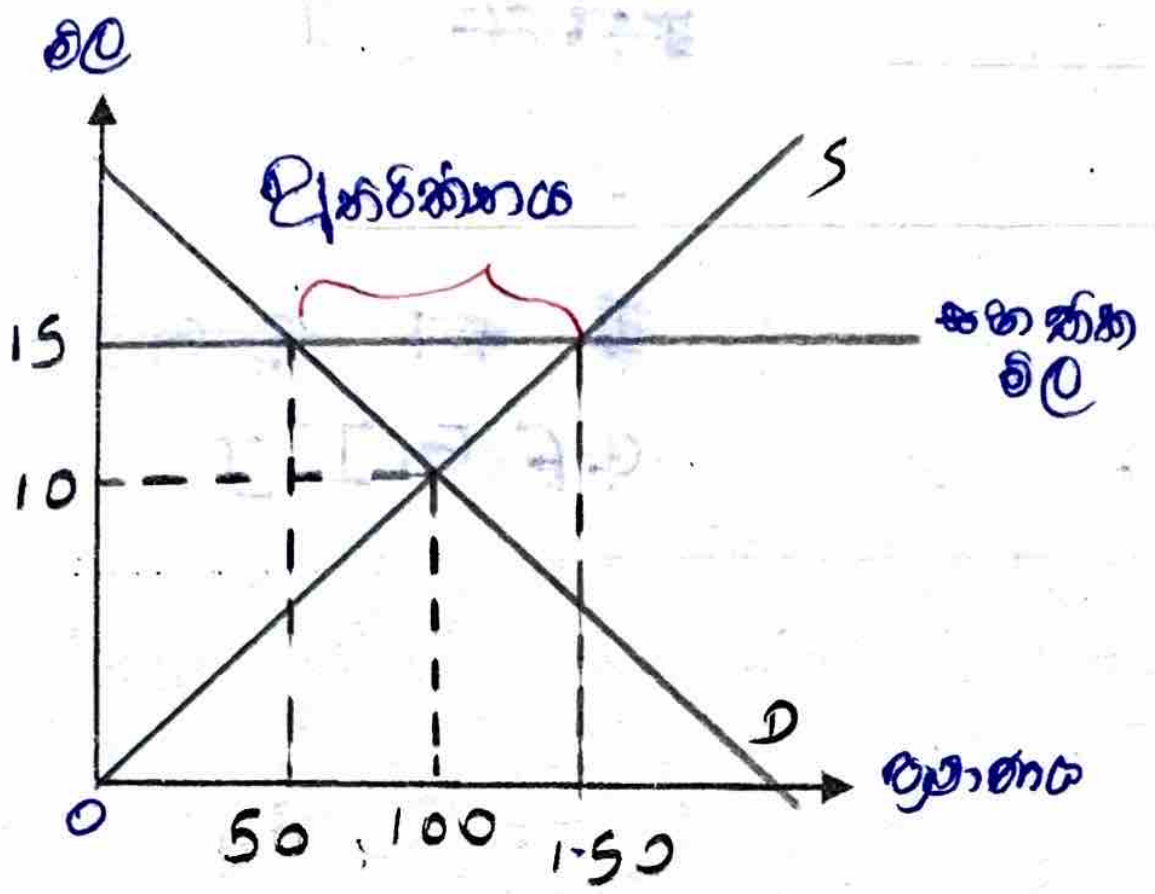

**10.පහත දැක්වෙන රූප සටහන ඇසුරින් අසා ඇති ප්‍රශ්න වලට පිළිතුරු සපයන්න.**

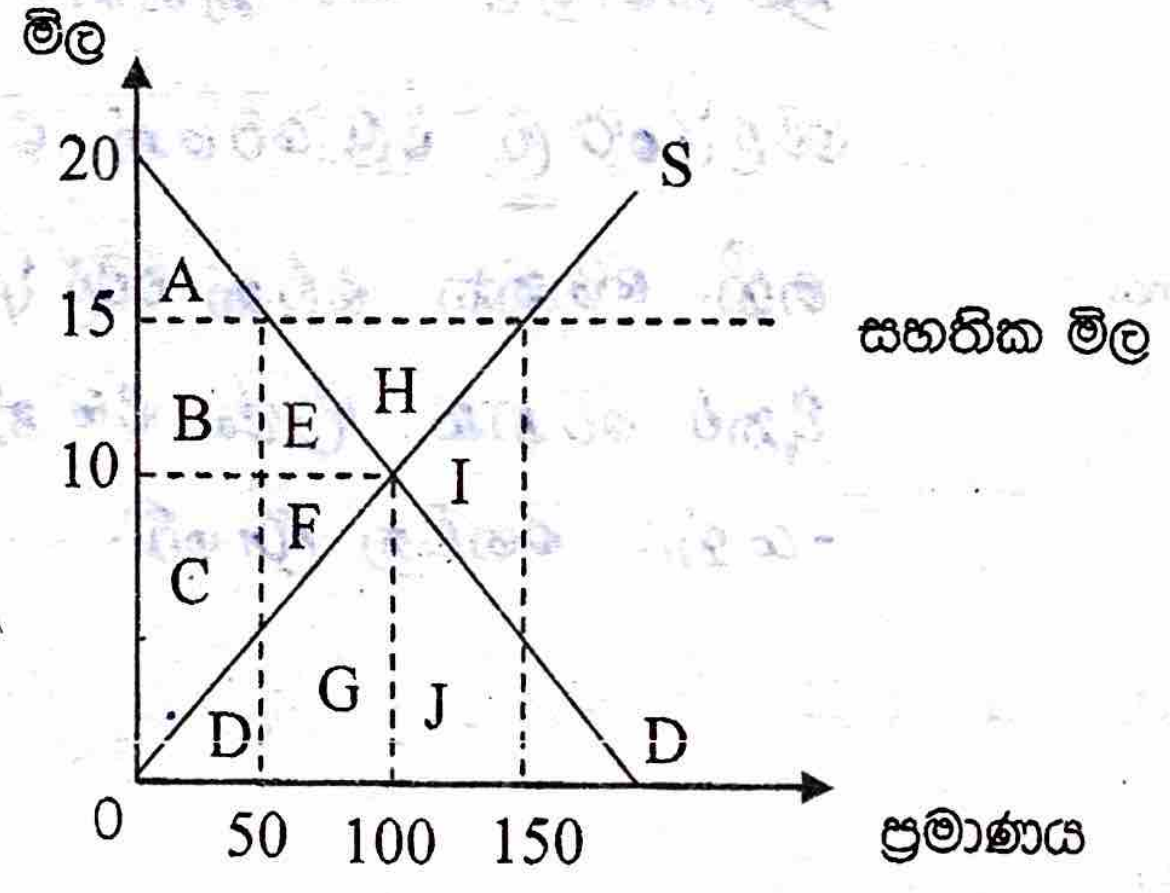


රජය විසින් අතිරික්තය මිලට ගන්නේ නම්,

i. පාරිභෝගිකයාගේ වියදම B C D

ii. රජයේ වියදම E F G H I J

iii. රජය මැදිහත්වීමට පෙර ආර්ථික අතිරික්තය A B C E F

iv. අතිරික්තය මිලටගත් පසු පාරිභෝගික අතිරික්තය A

v. අතිරික්තය මිලටගත් පසු නිෂ්පාදක අතිරික්තය ....B C E F H....

vi. අතිරික්තය මිලටගත් පසු ආර්ථික අතිරික්තය ....A B C E F H....

vii. අතිරික්තය මිලට ගැනීම නිසා අහිමිවන සුබසාධනය ....~~E F~~ I....

viii. අතිරික්තය මිලට ගැනීමේ සමස්ත සමාජයේ සුබසාධනයට සිදුවන හානිය

....~~E F D~~ G I J....

E F G I J

**11.** 'ඌණ පූර්ණ ගෙවීම් ක්‍රමය' ක්‍රියාත්මක කරන ආකාරය රූප සටහනක් ඇසුරින් පහදන්න.

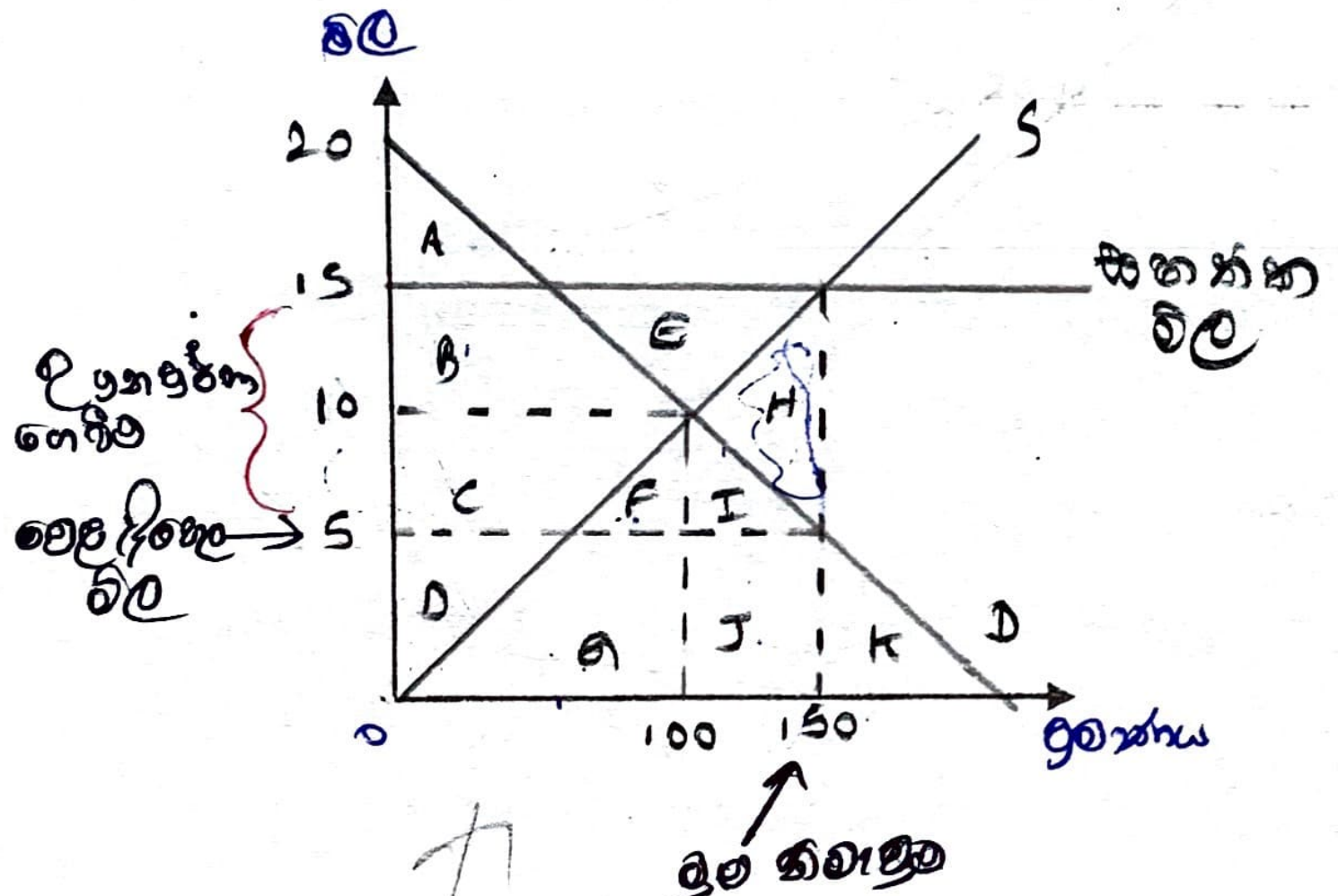


ඌණ පූර්ණ ගෙවීම් ක්‍රමය ක්‍රියාත්මක කරන්නේ නම් සහතික මිලට ... නිෂ්පාදකයා විසින් වෙළඳපොළ මිල යටතේ මිලට ... සහතික මිලත් වෙළඳපොළ මිලත් අතර වෙනස රජය විසින් නිෂ්පාදකයාට ගෙවනු ලැබේ.

**12.** පහත දැක්වෙන රූප සටහන ඇසුරින් අසා ඇති ප්‍රශ්න වලට පිළිතුරු සපයන්න.

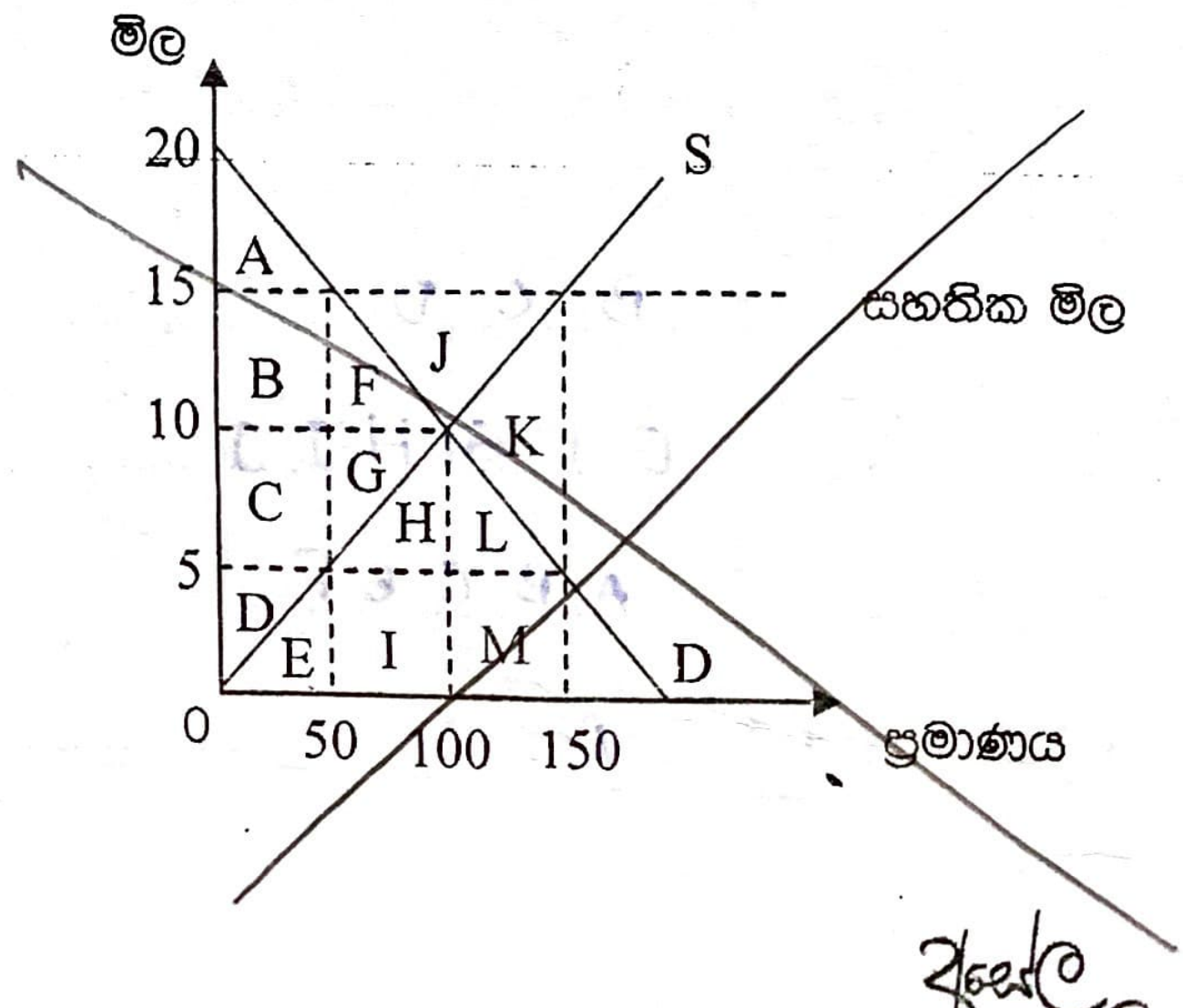

රජය විසින් ඌණ පූර්ණ ගෙවීම් ක්‍රමය ක්‍රියාත්මක කරන්නේ නම්,

i. පාරිභෝගිකයාගේ වියදම ....D G J....

ii. රජයේ වියදම ....B C E F H I....

iii. රජය මැදිහත්වීමට පෙර ආර්ථික අතිරික්තය ....A B C D....

iv. ඌණ පූර්ණ ගෙවීමෙන් පසු පාරිභෝගික අතිරික්තය ....A B C F I....

v. ඌණ පූර්ණ ගෙවීමෙන් පසු නිෂ්පාදක අතිරික්තය ....B C D E....

vi. ඌණ පූර්ණ ගෙවීමෙන් පසු ආර්ථික අතිරික්තය ....A B C F I + B C D E ~~A B C D E F I~~....

vii. ඌණ පූර්ණ ගෙවීම නිසා අහිමිවන සුබසාධනය ....H....

viii. ඌණ පූර්ණ ගෙවීම නිසා සමස්ත සමාජයේ සුබසාධනයට සිදුවන හානිය

....E H I....

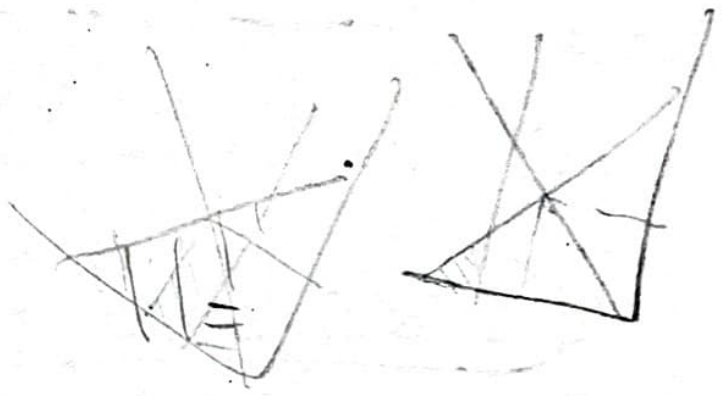

**13.** පහත දැක්වෙන තොරතුරු සම්පූරණ කරන්න.

| රාජ්‍ය මැදිහත් වීම | පාරිභෝගික අතිරික්තය | නිෂ්පාදක අතිරික්තය |
|---|---|---|
| උපරිම මිල නියම කිරීම | අඩු වේ | අඩු වේ |
| අවම මිල නියම කිරීම | වැඩි / අඩු වේ | අඩු / වැඩි වේ |
| අතිරික්තය මිලදී ගැනීම | අඩු වේ | වැඩි වේ |
| ඌණ පූර්ණ ගෙවීම | වැඩි වේ | වැඩි වේ |

**14.** පහත දැක්වෙන ඉල්ලුම් සැපයුම් සමීකරණ සැළකිල්ලට ගන්න.

$Qd = 700 - 5P$

$Qs = -200 + 10P$

උපරිම ඉ/ මිල

Qd = 700 − 5P
0 = 700 − 5P
−700 = −5P
−5 / −5
140 = P

QS = −200 + 10 × 140
QS = −200 + 1400
QS = 1200

| මිල | ඉ/ප | සැ/ප |
|---|---|---|
| 0 | 700 | −200 |
| 140 | 0 | 1200 |

මෙම තොරතුරු රූප සටහනක් ඇසුරින් ඉදිරිපත් කොට වෙළෙඳපොළ සමතුලිතය පෙන්වන්න.

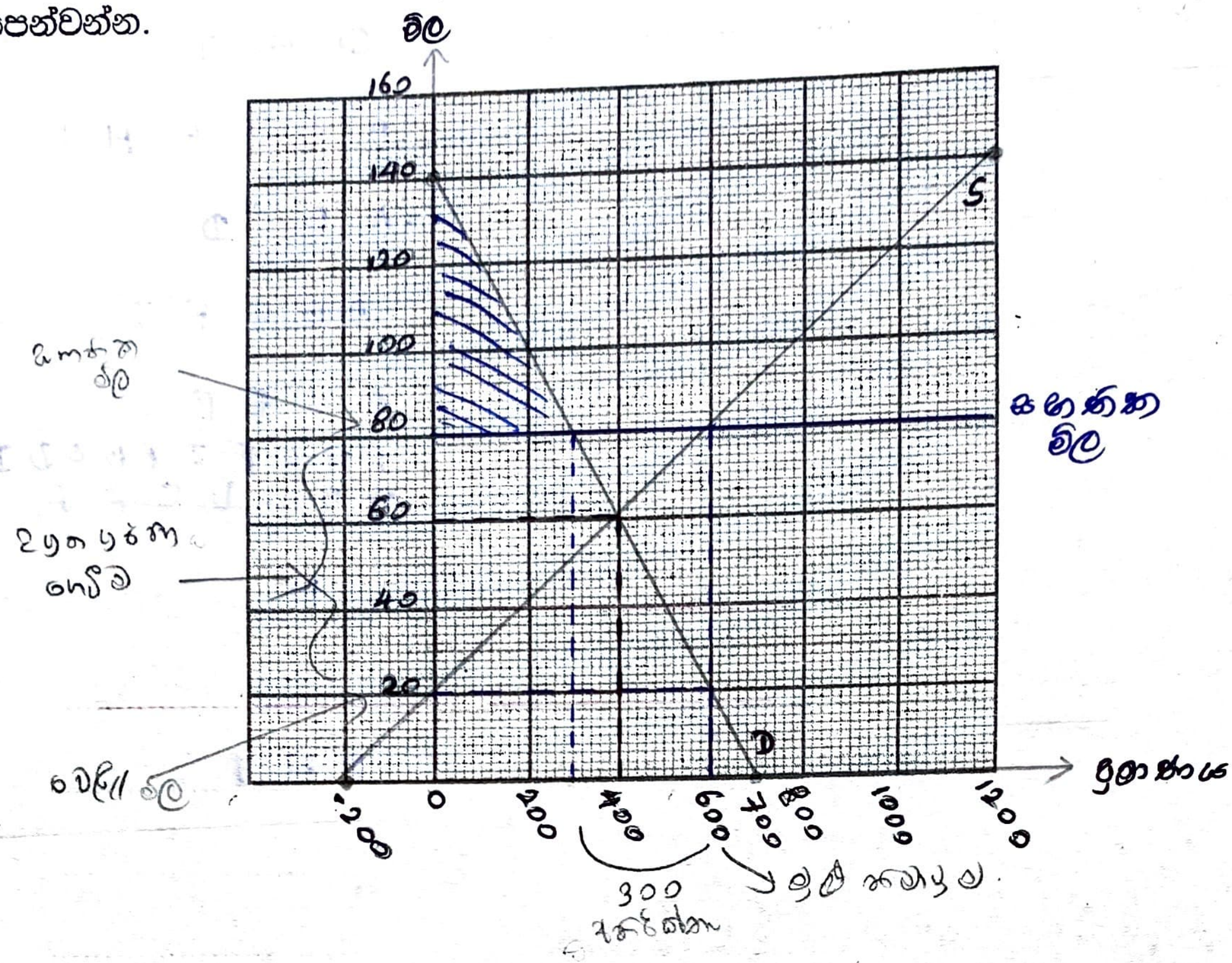


(අ) නිදහස් වෙළෙඳපොළ මගින් සමස්ත සමාජයට ලබාදෙන සුබසාධනය ගණනය කරන්න.

$= \frac{140-20}{2} \times 400$

$= 24\,000/=$

(ආ) මෙම භාණ්ඩය සඳහා රුපියල් 80 ක සහතික මිලක් රජය විසින් නියම කරන්නේ නම්, රජයේ පිරිවැය කොපමණ ද?

ආ. අතිරික්තය මිලට ගැනීමේ ක්‍රමය - රජයේ පිරිවැය

රජයේ පිරිවැය = අතිරික්තය × සහතික මිල

= 300 × 80

= 24000/=

ආ. ඌන පූරක ගෙවීම් ක්‍රමය - රජයේ පිරිවැය

රජයේ පිරිවැය = ඌන පූරක ගෙවීම × මුළු සැපයුම

= (80 - 20) × 600

= 60 × 600

= 36 000/=

(ඉ) අතිරික්ත සැපයුම මිලදී ගැනීමට ක්‍රියා කරන්නේ නම්,

i. පාරිභෝගිකයන් විසින් දරණ වියදම

පාරිභෝගික වියදම = සහතික මිල × මිලදී ගැනුම් ප්‍රමාණය

= 80 × 300

= 24 000/=

ii. සහතික මිලෙන් පසු ආර්ථික අතිරික්තය

පාරිභෝගික අතිරික්තය = $\frac{\text{ඉහළම ඉල්ලුම් මිල සමතුලිත මිල අතර වෙනස}}{2}$ × සමතුලිත ප්‍රමාණය

$= \frac{140 - 80}{2} \times 300$

= 9000/=

නිෂ්පාදක අතිරික්තය = මුළු ආදායම - මුළු විචල්‍ය පිරිවැය

$= (80 \times 600) - \frac{20+80}{2} \times 600$

= 48000 - 30000

= 18 000/=

ආර්ථික අතිරික්තය = නිෂ්පාදක අතිරික්තය + පාරිභෝගික අති.

= 18 000 + 9000

= 27 000/=

iii. අතිරික්ත සැපයුම මිලට ගැනීමෙන් සමාජයට සිදුවන ශුද්ධ සුබසාධන හානිය

අතිරික්තය මිලදී ගැනීමට {

පෙර - ආර්ථික අතිරික්තය 24 000

පසු - ආර්ථික අතිරික්තය 27 000

වැඩි වන ආර්ථික අතිරික්තය 3 000

රජයේ වියදම 24 000

සමාජයට සිදුවන හානිය 21 000

අසේල වර්ණකුලසූරිය

(ඊ) මෙම භාණ්ඩය සඳහා රුපියල් 80 ක සහතික මිලක් රජය විසින් නියම කර ඌණ පූර්ණ ගෙවීම් ක්‍රමය ක්‍රියාත්මක කර ඇතැයි සිතන්න.

i. පාරිභෝගිකයන් විසින් දරණ වියදම

පාරිභෝගික වියදම = ~~සමතුලිත~~ වෙළඳපොළ මිල × මුළු සැපයුම/ගනුදෙනුව

= 20 × 600

= 12000/=

ii. සහතික මිලෙන් පසු ආර්ථික අතිරික්තය

පාරිභෝගික අතිරික්තය = $\frac{\text{උපරිම ඉල්ලුම් මිලේ සමතුලිත මිලත් අතර වෙනස} \times \text{සමතුලිත ප්‍රමාණය}}{2}$

= $\frac{140 - 20 \times 600}{2}$

= 36000/=

නිෂ්පාදක අතිරික්තය = මුළු ආදායම - මුළු විචල්‍ය පිරිවැය

= $(80 \times 600) - \frac{80 + 20}{2} \times 600$

= 48 000 - 30 000

= 18 000/=

ආර්ථික අතිරික්තය = පාරිභෝගික අති. + නිෂ්පාදක අති.

= 36 000 + 18 000

= 54 000/=

අසේල මල්ලිකාරච්චි

iii. ඌණ පූර්ණ ගෙවීමෙන් සමාජයට සිදුවන ශුද්ධ සුබසාධන හානිය

ඌණ පූර්ණ ගෙවීමට { පෙර - පාරිභෝගික අතිරික්තය 24 000
පසු - පාරිභෝගික අතිරික්තය 54 000 }

ඇති වන පාරිභෝගික අතිරික්තය 30 000

රජයේ වියදම 36 000

සමාජයට අහිමි වන හානිය 6 000

* **15.කාර්මික භාණ්ඩ මිල ගණන්වලට වඩා කෘෂිකාර්මික නිෂ්පාදිතයන්ගේ මිල ගණන් උච්චාවචනය වන්නේ ඇයි ?**

- කාර්මික භාණ්ඩ සඳහා ඇති ඉල්ලුම සමග සසඳන විට කෘෂිකාර්මික භාණ්ඩ සඳහා ඇති සියලුම නම්‍යතා අනම්‍යතාවක් පෙන්නුම් කරයි. එනම්, මිල ඉල්ලුම් නම්‍යතාව, මිල සැපයුම් නම්‍යතාව, ආදායම් ඉල්ලුම් නම්‍යතාව යන සියලුම නම්‍යතා එකට අඩු අගයක් ගනී. අනම්‍ය නම්‍යතාවයක් ඇති විට ප්‍රමාණයෙහි හටගන්නා වෙනස්කම්, මිලෙහි සාපේක්ෂව විශාල වෙනස්කම් ඇති කිරීමට සමත් වෙයි.
- එබැවින් කෘෂිකාර්මික භාණ්ඩවල මිල ගණන් විශාල වශයෙන් උච්චාවචනය වීමට බලපාන හේතු කිහිපයකි.

1. අනම්‍ය ඉල්ලුම

එළවළු, තේ, සහල් වැනි බොහෝ කෘෂිකාර්මික භාණ්ඩ සඳහා ආදායමින් ඉතා කුඩා ප්‍රතිශයක් වන බැවින් ද, ඒවා අත්‍යාවශ්‍ය භාණ්ඩ වන බැවින් ද, ඒවායේ ඉල්ලුම සාපේක්ෂ වශයෙන් මිල අනම්‍යතාවක් පෙන්නුම් කරයි.

2. අනම්‍ය සැපයුම

කෘෂිකාර්මික භෝගවල නිෂ්පාදන කාලපරිච්ඡේදය සාමාන්‍යයෙන් තරමක් දීර්ඝ වේ. එසේම එම භෝග නශ්‍ය භෝග නිසා දිගුකාලයක් තබා ගත නොහැකිය. ගොවීන්ට තොග පවත්වා ගැනීමේ හැකියාව ඉතා සීමිතය. මේනිසා කෙටි කාලයේ දී තේ, රබර්, පොල්, කුරුඳු, කෝපි යනාදී කෘෂිකාර්මික භෝගයන්ගේ සැපයුම අනම්‍ය වේ.

3. ස්වභාවික හේතු

නිෂ්පාදකයාගේ පාලනයකින් තොර විවිධ ස්වභාවික සාධක (කාලගුණය, ලෙඩ රෝග) හේතු කොට තේ, කෝපි, පොල්, අර්තාපල් වැනි භෝගයන්හි සැපයුම අනපේක්ෂිත ලෙස වෙනස්විය හැකිය. අයපත් කාලගුණය නිසා තේ, අර්තාපල්, එළවළු වැනි භෝගවල සැපයුම අඩු වී මිල ඉහළ යාමට පිළිවන. එසේම යහපත් කාලගුණික හා දේශගුණික සාධක නිසා විශාල අස්වැන්නක් අනපේක්ෂිත ලෙස ලැබී වෙළෙඳපොළ මිල දැඩි පසුබෑමකට ලක්විය හැකිය. ලෙඩ රෝග සහ කෘෂි වසන්ගත නිසා ද කෘෂි භෝග ඵලදාව අඩු විය හැකිය.

4. රජයේ ප්‍රතිපත්ති (ආනයන පාලනය, බදු සහනාධාර ලබාදීම)

උත්සව සමයේ ලොකු ළූණු, අර්ථාපල් යනාදිය ආනයනය කිරීමට රජය තීරණය කලහොත් එය දේශීය වෙළෙඳපොළෙහි මිල පහළ යාමට හේතු වේ.

5. ගෝලීය වෙළෙඳපොළේ සිදුවන උච්චාවචන.

වෙනස්වීම

**16. කෘෂි භාණ්ඩවල මිල සහ ගොවීන්ගේ ආදායම් ස්ථායීකරණය සඳහා යොදාගනු ලබන විවිධ ක්‍රියාමාර්ග සඳහන් කරන්න.**

1. ආකර්ෂණීය මිලට ගැනීමේ ක්‍රමය
2. උපාන ප්‍රර්ශන හෙවීම් ක්‍රමය
3. නිෂ්පාදන සළාක හෙවත් කෝටා ලබා දී සැපයුම සීමා කිරීම
4. භූමිය වගාව සඳහා යොදා නොගැනීම දිරිමත් කිරීම පිණිස මිලක් ගෙවීම / වගා කරන ඉඩම් ප්‍රමාණය සීමා කිරීම
5. ස්වාරක්ෂක තොග රැස් කිරීම හා මුදා හැරීම
6. වෙළෙඳපොළ තත්ත්වය පිළිබඳ නිවැරදි තොරතුරු කල් තියා ලබා දීම
7. අපනයන සහනාධාර ලබා දීම (වැඩි අස්වැන්න)
8. ආනයන තීරු බදු පැනවීම (පිටින් එන එක අඩු කරන්න)
9. ආනයන සළාක කිරීම

5 ක: මතක තියාගන්න