01. නිෂ්පාදන ආයතනයක් සම්බන්ධ පහත සඳහන් සංකල්ප සැකෙවින් පැහැදිලි කරන්න.

(අ) විචල්‍ය සාධක

- ආයතනයක නිමැවුම වැඩි කිරීමේදී අනිවාර්යයෙන්ම වෙනස් කළ යුතු යෙදවුම් විචල්‍ය සාධක වේ

උදා:- අමුද්‍රව්‍ය, ශ්‍රමය

(ආ) ස්ථාවර සාධක

- ආයතනයක නිමැවුම වැඩි කිරීමේදී අනිවාර්ය නොවෙනස්ව තබා ගත හැකි යෙදවුම් ස්ථාවර සාධක වේ

උදා:- ගොඩනැගිලි, යන්ත්‍ර, කළමනාකරණය

(ඉ) කෙටි කාලය

- සමහර යෙදවුම් පමණක් වෙනස් කරමින් නිමැවුම වැඩි කර ගත හැකි කාලය කෙටි කාලය ලෙස හැඳින්වේ

- කෙටි කාලයේ ලක්ෂණය වන්නේ එක හෝ වැඩි ගණනක යෙදවුමක් හෝ ස්ථාවරව පැවතීමයි

(ඊ) දිගු කාලය

- සියලුම යෙදවුම් වෙනස් කරමින් නිමැවුම වැඩි කර ගත හැකි කාලය දිගු කාලය ලෙස හැඳින්වේ

- දිගු කාලයේ ලක්ෂණය වන්නේ සියලුම යෙදවුම් විචල්‍ය සාධක බවට පත් වීමයි

02. 'නිෂ්පාදන ශ්‍රිතය' යනු කුමක් ද?

– ආයතනයක යෙදවුම සහ නිමැවුම අතර පවතින තාක්ෂණික සම්බන්ධය පෙන්නුම් කරන ශ්‍රිතය නිෂ්පාදන ශ්‍රිතය ලෙස හැඳින්වේ.

– ස්ථාවර සාධක නොවෙනස්ව තිබියදී විචල්‍ය සාධක සහ නිමැවුම අතර පවතින තාක්ෂණික සම්බන්ධය පෙන්නුම් කරන ශ්‍රිතය කෙටි කාලීන නිෂ්පාදන ශ්‍රිතය ලෙස හැඳින්වේ.

– සියලුම (සාධක) යෙදවුම් වෙනස් කරන විට යෙදවුම් හා නිමැවුම අතර පවතින තාක්ෂණික සම්බන්ධය පෙන්නුම් කරන ශ්‍රිතය දිගු කාලීන නිෂ්පාදන ශ්‍රිතයයි.

[illegible] 2 ව 10/10

03. නිෂ්පාදන ආයතනයක කෙටිකාලීන ඵලදාවන්ගේ හැසිරීම සැකෙවින් දක්වන්න.

ස්ථාවර සාධක (භූමි අක්කර)	විචල්‍ය සාධක (ශ්‍රමිකයන්)	මුළු ඵලදාව (වී බුසල්) TP	ආන්තික ඵලදාව MP	සාමාන්‍ය ඵලදාව AP
1	0	0		–
1	1	4	4	4
1	2	10	6	5
1	3	14	4	4.6
1	4	16	2	4
1	5	16	0	3.2
1	6	14	-2	2.3

කෙටි කාලය — දිගු කාලය

වැඩිවන ඵල — හීනවන ඵල

01. කෙටි කාලයේදී ආයතනයක මුළු ඵලදාව සෑම විට වැඩි වේ.

02. කෙටි කාලයේදී ආයතනයක ආන්තික ඵලදාව මුලදී වැඩි වී පසු අඩු වේ.

03. කෙටි කාලයේදී ආයතනයක සාමාන්‍ය ඵලදාව මුලදී වැඩි වී පසුව අඩු වේ.

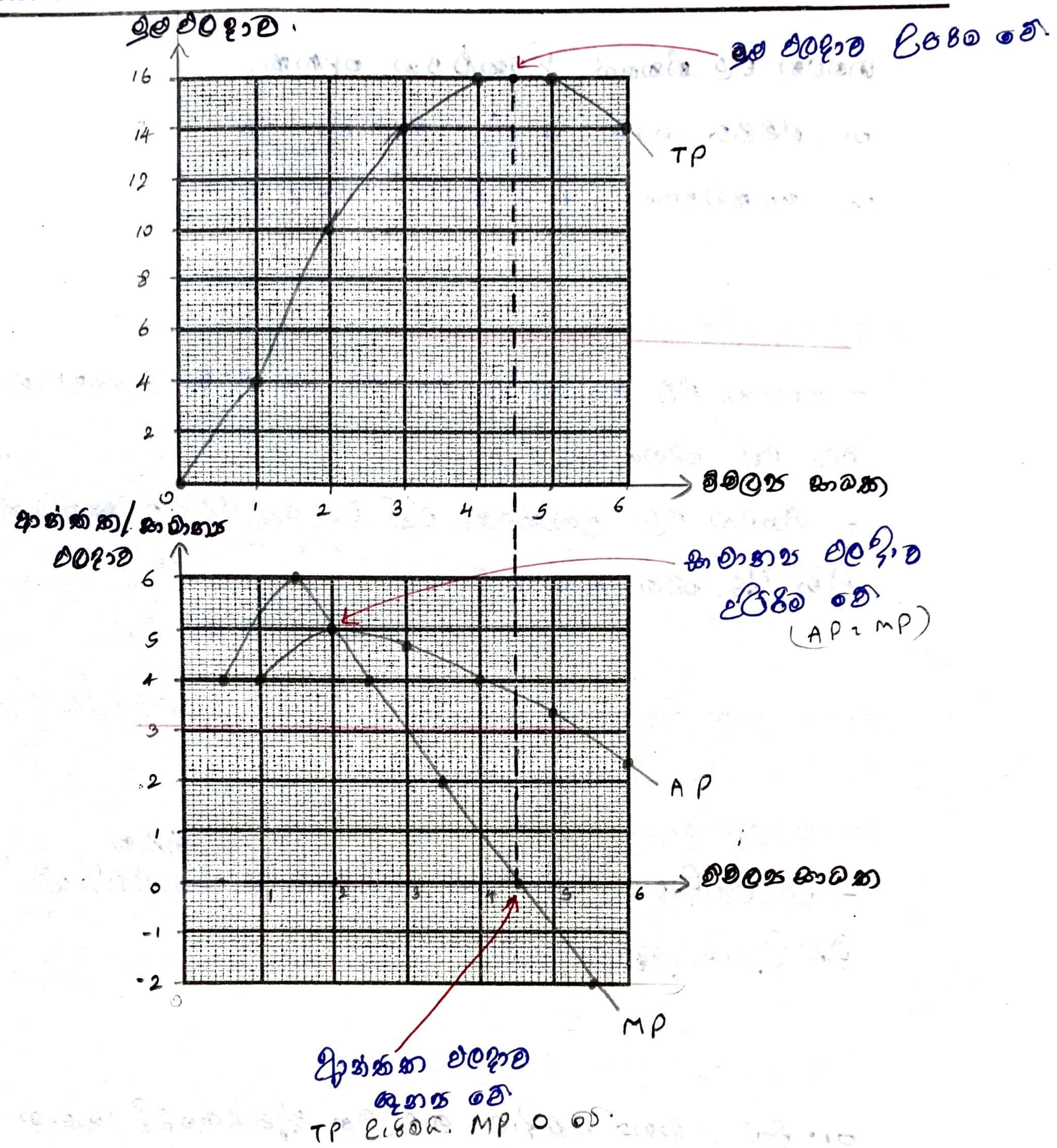

04.'හීනවන ඵල නීතිය' (විචල්‍යය සාධකානුපාත නීතිය) යනු කුමක් ද?

- කෙටි කාලයේදී ආයතනයක ඇතැම් ස්ථාවර සාධක නොවෙනස්ව තබාගෙන විචල්‍ය සාධක ඒකකයෙන් වැඩි කරන විට ආන්තික ඵලදාව හා සාමාන්‍ය ඵලදාව කිසියම් අවස්ථාවකින් පසු අඛණ්ඩව අඩු වීම හීනවන ඵල නීතියෙන් කියවේ.

අසේල

හීනවන ඵල නීතියේ උපකල්පන දෙකකි.

01. විචල්‍ය සාධක සියල්ල සමජාතීය බව.

02. තාක්ෂණය නොවෙනස්ව පවතින බව.

05. මුළු ඵලදාව ඇසුරින් 'හීනවන ඵල නීතිය' හඳුනාගන්නේ කෙසේ ද?

- වැඩෙන ඵල ක්‍රියාත්මක වන විට මුළු ඵලදාව සානුපාතික වේගයට වඩා වැඩි වේගයකින් වැඩි වේ.
- හීනවන ඵල ක්‍රියාත්මක වන විට මුළු ඵලදාව සානුපාතික වේගයට වඩා අඩු වේගයකින් වැඩි වේ.

06. නිෂ්පාදන ආයතනයක කෙටිකාලීන ඵලදාවන් අතර සම්බන්ධය පැහැදිලි කරන්න.

මුළු ඵලදාව හා ආන්තික ඵලදාව

- මුළු ඵලදාව උපරිම වන අවස්ථාවේදී ~~මුළු~~ ආන්තික ඵලදාවේ ~~අගය~~ ~~එය~~ අගය ශුන්‍ය වේ.

සාමාන්‍ය ඵලදාව හා ආන්තික ඵලදාව

01. ~~මුළු~~ සාමාන්‍ය ඵලදාව වැඩි වන අවස්ථාවේදී සාමාන්‍ය ඵලදාවේ අගයට වඩා ආන්තික ඵලදාවේ අගය වැඩි වේ.

02. සාමාන්‍ය ඵලදාව උපරිම වන අවස්ථාවේදී ~~[illegible]~~ සාමාන්‍ය ඵලදාවේ අගය හා ආන්තික ඵලදාවේ අගය සමාන වේ.

03. සාමාන්‍ය ඵලදාව අඩු වන අවස්ථාවේදී සාමාන්‍ය ඵලදාවේ අගයට වඩා ආන්තික ඵලදාවේ අගය අඩු වේ.

ටෙස්ට් කාලය ඉවරයි

අසේල මල්ලිකාරච්චි

07. පරිමාණානුකූල ඵල නීතිය යනු කුමක් ද?

- දිගු කාලයේදී ආදානයන් සතු සියලුම සාධක වෙනස් කරන විට නිමැවුම හැසිරෙන ආකාරය පරිමාණානුකූල ඵල නීතියෙන් පෙන්නුම් කරයි.

පරිමාණානුකූල ඵල ප්‍රකාර 3 කි.

01. වැඩිවන පරිමාණානුකූල ඵල
02. ස්ථාවර පරිමාණානුකූල ඵල
03. අඩුවන පරිමාණානුකූල ඵල



යෙදවුම්	මුළු නිමැවුම	පරිමාණානුකූල ඵල
10%	20%	වැඩිවන පරිමාණානුකූල ඵල
10%	10%	ස්ථාවර පරිමාණානුකූල ඵල
10%	5%	අඩුවන පරිමාණානුකූල ඵල

08. පරිමාණානුකූල ඵලවල ප්‍රබේද පැහැදිලි කරන්න.

(අ) වැඩිවන පරිමාණානුකූල ඵල

- දිගු කාලයේදී ආදානයන් සතු සියලුම සාධක වෙනස් කරනවිට යෙදවුම වැඩි කරන ප්‍රතිශතයට වඩා වැඩි ප්‍රතිශතයකින් නිමැවුම වැඩි වීම වැඩිවන පරිමාණානුකූල ඵල ලෙස හඳුන්වයි.

- වැඩිවන පරිමාණානුකූල ඵල හට ගැනීමෙහිලා බලපාන සාධක පහත දැක්වේ.

1. නොබෙදිය හැකි යෙදවුම් තිබීම.
2. ශ්‍රම විභාජනය තුලින් විශේෂ ප්‍රාගුණ්‍යය කිරීමේ හැකියාව.
3. යන්ත්‍ර භාවිතා කිරීමේ හැකියාව
4. එක් වරක දී පමණක් දැරීමට සිදුවන වියදම් තිබීම

(ආ) ස්ථාවර පරිමාණානුකූල ඵල

- දිගු කාලයේ දී ව්‍යාපාරයක් සෑම සාධක යෙදවුම් වැඩි කරන විට යෙදවුම වැඩි කරන ප්‍රතිශතයට සමාන ප්‍රතිශතයකින් නිමැවුම වැඩි වීම ස්ථාවර පරිමාණානුකූල ඵල ලෙස හඳුන්වයි.

"සමාන" කියන්නේ අනිවාර්යෙන් කියන්න.

(ඉ) අඩුවන පරිමාණානුකූල ඵල

- දිගු කාලයේ දී ව්‍යාපාරයක් සෑම සාධක යෙදවුම් වැඩි කරන විට යෙදවුම වැඩි කරන ප්‍රතිශතයට වඩා අඩු ප්‍රතිශතයකින් නිමැවුම වැඩි වීම අඩුවන පරිමාණානුකූල ඵල ලෙස හඳුන්වයි.

අඩුවන පරිමාණානුකූල ඵල හට ගැනීමෙහිලා බලපාන සාධක පහත දැක්වේ.

1. සම්පත් හීනවීම.
2. ආතතිය (ක්ලමතය)
3. කළමනාකරණය හා සම්බන්ධීකරණය පිළිබඳ ගැටළු.

09.පහත සඳහන් පිරිවැය සංකල්ප උදාහරණ සහිතව පැහැදිලි කරන්න.

(අ) මූල්‍ය පිරිවැය/සෘජු පිරිවැය / ප්‍රත්‍යක්ෂ පිරිවැය

- ආයතනයක් විසින් තම/ගේ නිෂ්පාදනය සඳහා පිටතින් ලබාගන්නා සාධක වලට ගෙවීම් කරන ගෙවීම මූල්‍ය පිරිවැය වේ.

උදා:- අමුද්‍රව්‍ය මිලදීම

ශ්‍රමික වැටුප්

විදුලි ගාස්තු

කුලිය ගෙවීම

(ආ)ආරෝපිත පිරිවැය/වක්‍ර පිරිවැය/ගම්‍ය පිරිවැය/ව්‍යංග පිරිවැය/සැඟවුනු පිරිවැය

- ආයතනයක් විසින් තමාගේ නිෂ්පාදනය සඳහා තමන් සතු සාධක භාවිතා කිරීම නිසා අහිමි වන ආදායම ආරෝපිත පිරිවැය වේ.

උදා:- අයිතිකරුගේ භූමියට අහිමි වන බදු කුලිය

අයිතිකරුගේ ශ්‍රමයට අහිමි වන වැටුප

අයිතිකරුගේ ප්‍රාග්ධනයට අහිමි වන පොලිය

අයිතිකරුගේ ව්‍යවසායකත්වයට අහිමි වන ලාභය

(ඉ) ආර්ථික පිරිවැය/ආවස්ථික පිරිවැය

- විකල්ප තමුන් තේරීම කරන විට ඒ වෙනුවෙන් කැපකරන ඊළඟ හොඳම විකල්පයේ වටිනාකම ආවස්ථික පිරිවැයයි.

ආවස්ථික පිරිවැය = මූල්‍ය පිරිවැය + ආරෝපිත පිරිවැය

නිමවුම් ඒකක (Q)	මුළු ස්ථාවර පිරිවැය (TFC)	මුළු විචල්‍ය පිරිවැය (TVC)	මුළු පිරිවැය (TC)
0	50	0	50
1	50	20	70
2	50	35	85
3	50	60	110
4	50	100	150
5	50	150	200
6	50	205	255

[illegible]
[illegible]
[illegible]

10. පහත සඳහන් පිරිවැය සංකල්ප නිදසුන් සහිතව පැහැදිලි කරන්න.

අ. ස්ථාවර පිරිවැය (FC)

- ව්‍යාපාරයක් මගින් කෙටිකාලීන නිෂ්පාදනය වැඩි හෝ අඩු වන්නේ නම් ස්ථාවර සාධකවල ඇතිවන පිරිවැය ස්ථාවර පිරිවැය වේ.

eg:- ගොඩනැගිලි කුලිය

රක්ෂණ වාරික

ක්ෂය කරය

බලපත්‍ර ගාස්තු

ණය පොලිය

ස්ථාවර පිරිවැයෙහි දැකිය හැකි ලක්ෂණ කිහිපයකි.

01. ~~නිමවුම ස්ථාවර~~ නිමවුම ශුන්‍ය වූ විට ද ස්ථාවර පිරිවැයක් දැකිය හැකි වීම.

02. නිමවුම වෙනස් වුවද ස්ථාවර පිරිවැය නොවෙනස්ව පැවතීම

03. ස්ථාවර පිරිවැය දැකිය හැක්කේ කෙටි කාලයේ දී පමණක් වීම.

ආ. විචල්‍ය පිරිවැය (VC)

- නිෂ්පාදනයක එක් කා/ලේ කෙටිකාලය තුළ දී යොදාගන්නා විචල්‍ය සාධක වල දැරීමට සිදුවන පිරිවැය විචල්‍ය පිරිවැය වේ.

උදා:- අමුද්‍රව්‍ය මිලදී ගැනීම, විදුලි ගාස්තු, කම්කරු වැටුප්

විචල්‍ය පිරිවැයෙහි දැකිය හැකි ලක්ෂණ කිහිපයකි.

01. නිමැවුම 0 දී විචල්‍ය පිරිවැයක් දැරිය නොහැකි වීම.

02. නිමැවුම වෙනස් කරන විට විචල්‍ය පිරිවැය වෙනස් වීම.

03. විචල්‍ය පිරිවැය කෙටි කාලයේදී මෙන්ම දිගු කාලයේදී දැකිය හැකි වීම.

ඉ. මුළු පිරිවැය (TC)

- නිෂ්පාදනයක් එක් කා/ලේ කෙටිකාලය තුළ යොදාගන්නා සියලුම සාධක මත දැරීමට සිදුවන පිරිවැය මුළු පිරිවැය වේ.

මුළු පිරිවැය = මුළු ස්ථාවර පිරිවැය + මුළු විචල්‍ය පිරිවැය	$TC = TFC + TVC$

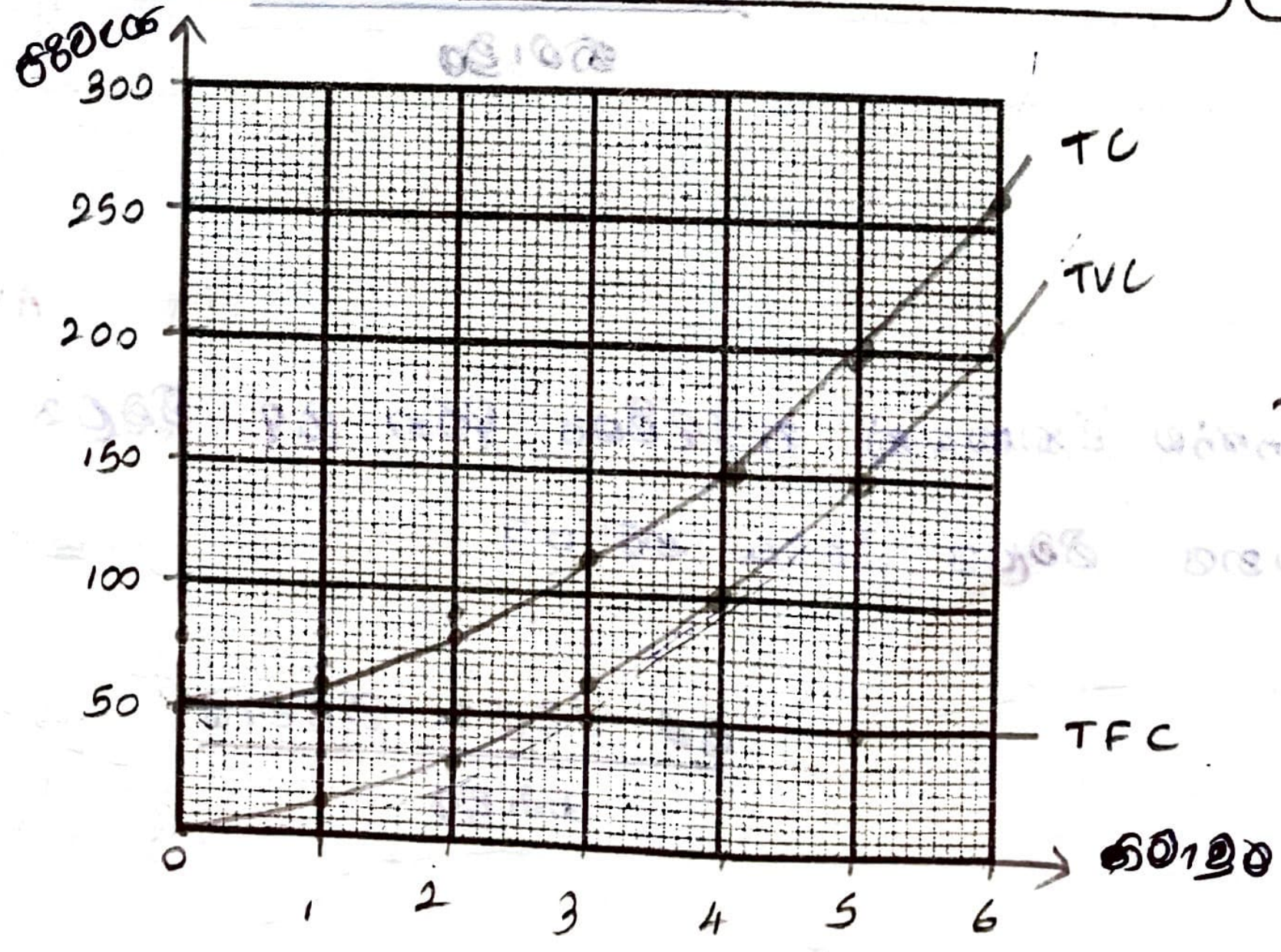

$TC = TFC + TVC$

$50 = 50 \quad 0$

∴ TC හා TFC එකම තැනින් පටන් ගනී.

01. මුළු ස්ථාවර පිරිවැය වක්‍රය මූලයට ඉහළින් ආරම්භ කොට නිමැවුම අක්ෂයට සමාන්තරව ගමන් කරයි. (TFC)

02. මුළු විචල්‍ය පිරිවැය වක්‍රය මූලයෙන් ආරම්භ වී ඉහළට බෑවුම් වේ (TVC)

03. මුළු පිරිවැය වක්‍රය මූලයට ඉහළින් ආරම්භ වී ඉහළට බෑවුම් වේ (TC). TC සහ TVC අතර පරතරය සිරස් දුර මගින් TFC පෙන්නුම් කරන බැවින් එම වක්‍ර සමාන්තරව ගමන් කරයි.

11. පහත සඳහන් පිරිවැය සංකල්ප කෙටියෙන් පැහැදිලි කරන්න.

i. **සාමාන්‍ය ස්ථාවර පිරිවැය** (Average Fixed Cost - AFC)

- නිශ්චිත ඒකකයක් නිපදවීමට දරන ලද ස්ථාවර පිරිවැය සාමාන්‍ය ස්ථාවර පිරිවැය නම් වේ.

සාමාන්‍ය ස්ථාවර පිරිවැය = $\frac{\text{මුළු ස්ථාවර පිරිවැය}}{\text{නිමැවුම}}$

$AFC = \frac{TFC}{Q}$

ii. **සාමාන්‍ය විචල්‍ය පිරිවැය** (Average Variable Cost - AVC)

- නිශ්චිත ඒකකයක් නිපදවීමට දරන ලද විචල්‍ය පිරිවැය සාමාන්‍ය විචල්‍ය පිරිවැය නම් වේ.

සාමාන්‍ය විචල්‍ය පිරිවැය = $\frac{\text{මුළු විචල්‍ය පිරිවැය}}{\text{නිමැවුම}}$

$AVC = \frac{TVC}{Q}$

iii. **සාමාන්‍ය මුළු පිරිවැය** (Average Total Cost - ATC)

සාමාන්‍ය පිරිවැය/(Average Cost - AC)

- භාණ්ඩ ඒකකයක් නිපදවීමට දරන ලද මුළු පිරිවැය සාමාන්‍ය මුළු පිරිවැය නම් වේ

$$\text{සාමාන්‍ය මුළු පිරිවැය} = \frac{\text{මුළු පිරිවැය}}{\text{නිමැවුම}}$$

$$ATC = \frac{TC}{Q}$$

සාමාන්‍ය මුළු පිරිවැය = සාමාන්‍ය ස්ථාවර පිරිවැය + සාමාන්‍ය විචල්‍ය පිරිවැය

$$ATC = AFC + ATC$$

iv. **ආන්තික පිරිවැය** (Marginal Cost - MC)

- අමතර භාණ්ඩ ඒකකයක් නිපදවීම නිසා මුළු පිරිවැයට එකතු වන පිරිවැය ආන්තික පිරිවැය ලෙස හැඳින්වේ.

- අමතර භාණ්ඩ ඒකකයක් නිපදවීමේදී ස්ථාවර පිරිවැය වෙනස් නොවන නිසා ආන්තික පිරිවැය මගින් පෙන්නුම් කරන්නේ විචල්‍ය පිරිවැය වෙනස් වීම පමණි.

- මුළු පිරිවැයේ වෙනස නිමැවුමේ වෙනසින් බෙදීමෙන් ආන්තික පිරිවැය ලැබේ.

$$\text{ආන්තික පිරිවැය} = \frac{\text{මුළු පිරිවැයේ වෙනස}}{\text{නිමැවුමේ වෙනස}}$$

$$MC = \frac{\Delta TC}{\Delta Q}$$

අසේල වල්ලියන්තන

නිමවුම (Q)	ස්ථාවර පිරිවැය (FC)	විචල්‍ය පිරිවැය (VC)	මුළු පිරිවැය (TC)	සාමාන්‍ය ස්ථාවර පිරිවැය (AFC)	සාමාන්‍ය විචල්‍ය පිරිවැය (AVC)	සාමාන්‍ය පිරිවැය (AC/ATC)	ආන්තික පිරිවැය (MC)
0	50	0	50	∝	-	∝	
1	50	20	70	50	20	70	20
2	50	35	85	25	17.5	42.5	15
3	50	60	110	16.6	20	36.6	25
4	50	100	150	12.5	25	37.5	40
5	50	150	200	10	30	40	50
6	50	205	255	8.3	34.1	42.4	55

MC [illegible]
ATC
AVC
[illegible]

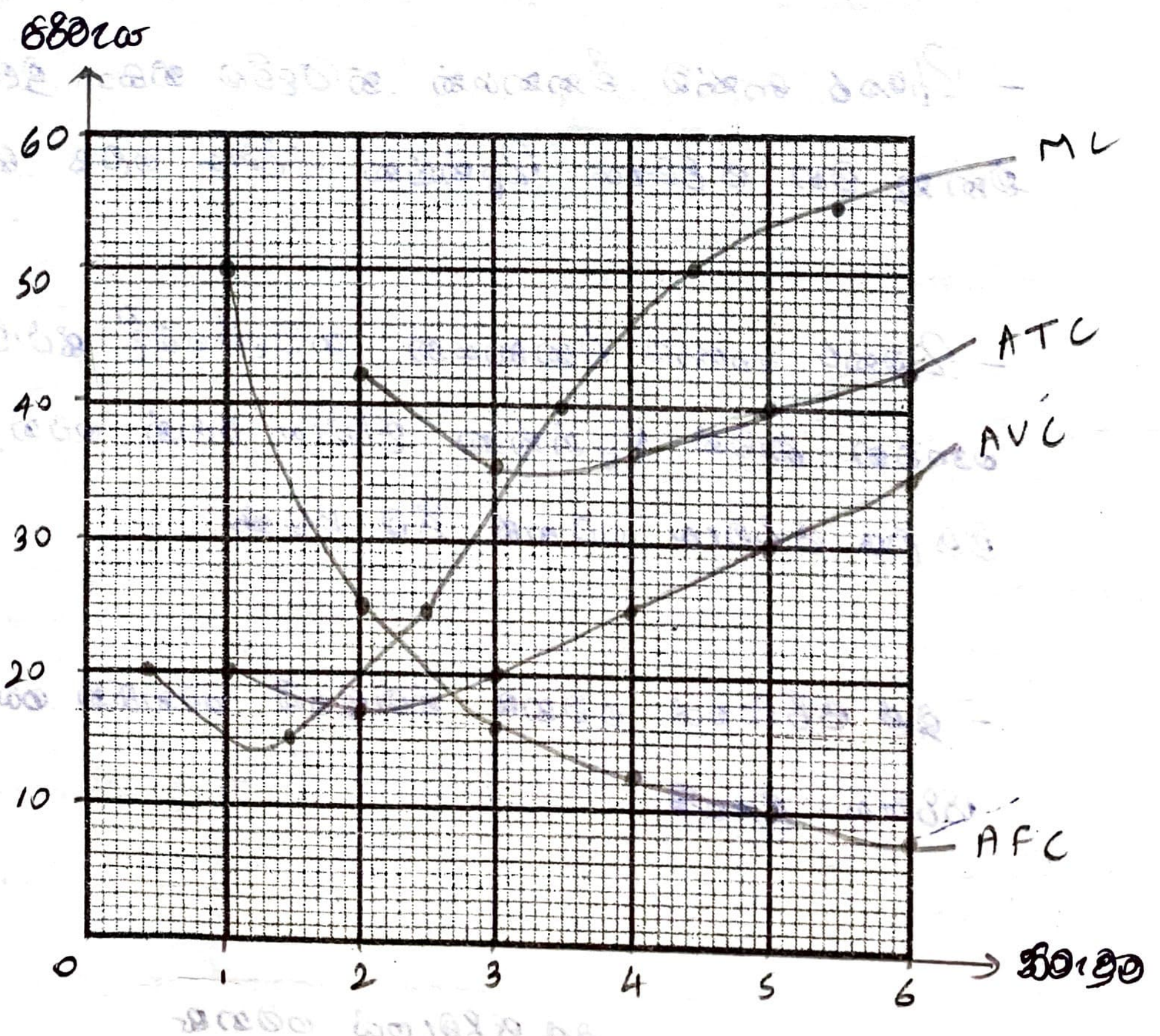

12. හීනවන ඵල නීතිය හා සම්බන්ධ ඵලදාවන් සහ පිරිවැය අතර සම්බන්ධය පැහැදිලි කරන්න.

- කෙටි කාලයේදී ආයතනයක් සතු ස්ථාවර සාධක නොවෙනස්ව තබා ගෙන විචල්‍ය සාධක ~~ඒකකයක්~~ ඒකකය බැගින් වැඩි කරන විට ආන්තික ඵලදාව (MP) හා සාමාන්‍ය ඵලදාව (AP) කිසියම් අවස්ථාවක් වන ~~කාලයෙන්~~ අඛණ්ඩව අඩු වීම හීනවන ඵල නීතියෙන් කියවේ.

- ආන්තික ඵලදාව (MP) ආන්තික පිරිවැයටත් (MC) ආන්තික සාමාන්‍ය ඵලදාව (AP) සාමාන්‍ය විචල්‍ය පිරිවැයටත් බලපාන අතර ~~ඒක~~ ඵලදාව හා පිරිවැය අතර පවතින්නේ ප්‍රතිලෝම සම්බන්ධයකි.

- හීනවන ඵල නීතිය නිසා ආන්තික ඵලදාව (MP) මුලදී වැඩි වී පසුව අඩු වන බැවින් ආන්තික පිරිවැය (MC) මුලදී අඩු වී පසුව වැඩි වේ.

- හීනවන ඵල නීතිය නිසා සාමාන්‍ය ඵලදාව (AP) මුලදී වැඩි වී පසුව අඩු වන බැවින් සාමාන්‍ය විචල්‍ය පිරිවැය (AVC) මුලදී අඩු වී පසුව වැඩි වේ.

<u>අමතර සම්බන්ධතා</u>

01. AP වැඩි වන අවස්ථාවේදී AP වල අගයට වඩා MP වැඩි බැවින් AVC අඩු වන අවස්ථාවේදී AVC වල අගයට වඩා MC වල අගය අඩුවේ.

02. AP උපරිම වන අවස්ථාවේදී AP වල අගය හා MP වල අගය සමාන වන බැවින් AVC අවම වන අවස්ථාවේදී AVC අගය හා MC වල අගය සමාන වේ.

03. AP අඩු වන අවස්ථාවේදී AP වල අගයට වඩා MP වල අගය අඩු බැවින් AVC වැඩි වන අවස්ථාවේදී AVC වල අගයට වඩා MC වල අගය වැඩි වේ.

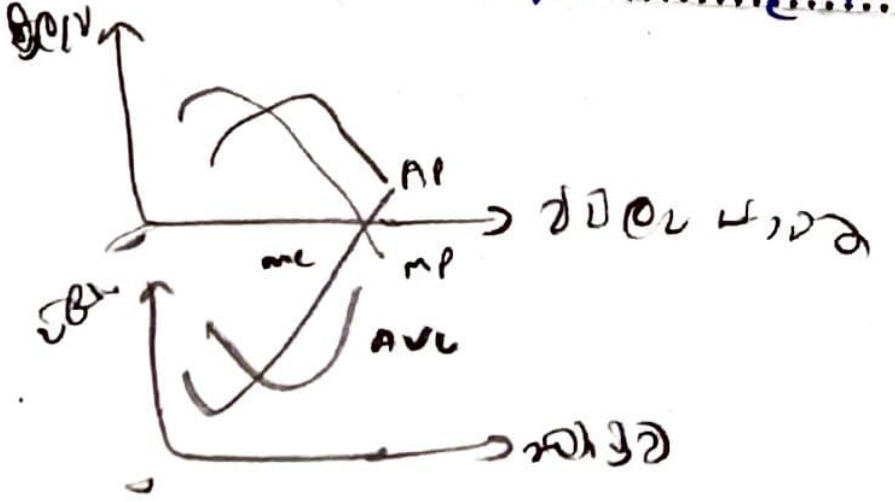

අසේල

13. දිගු කාලීන නිෂ්පාදන පිරිවැයේ ස්වභාවය කෙටියෙන් පහදන්න.

- දිගු කාලයේදී යෙදවුම් සියල්ල විචල්‍ය පිරිවැය බවට පත් වන බැවින් දිගු කාලීන නිෂ්පාදන පිරිවැයේ ස්ථාවර පිරිවැය නැත. එනම් විචල්‍ය පිරිවැය පමණි.
- දිගු කාලීන නිෂ්පාදන පිරිවැය හැසිරීම පරිමාණානුකූල ඵල නීතිය මත තීරණය වේ.

14. ආයතනයක දිගුකාලීන සාමාන්‍ය පිරිවැය වක්‍රයේ (LAC) හැඩය තීරණය වීම කෙරෙහි "පරිමාණානුකූල ඵල නීතිය" බලපාන ආකාරය රූප සටහනක් ඇසුරින් පැහැදිලි කරන්න.

නිමැවුම ↑ AC ↓
- වැඩෙන පරිමාණානුකූල ඵල ක්‍රියාත්මක වන විට දිගුකාලීන සාමාන්‍ය පිරිවැය ක්‍රමයෙන් පහළ යයි.

ස්ථාවර — AC —
- ස්ථාවර පරිමාණානුකූල ඵල ක්‍රියාත්මක වන විට දිගුකාලීන සාමාන්‍ය පිරිවැය නොවෙනස්ව පවතී.

නිමැවුම ↑ AC ↑
- හීනවන පරිමාණානුකූල ඵල ක්‍රියාත්මක වන විට දිගුකාලීන සාමාන්‍ය පිරිවැය ක්‍රමයෙන් වැඩි වේ.

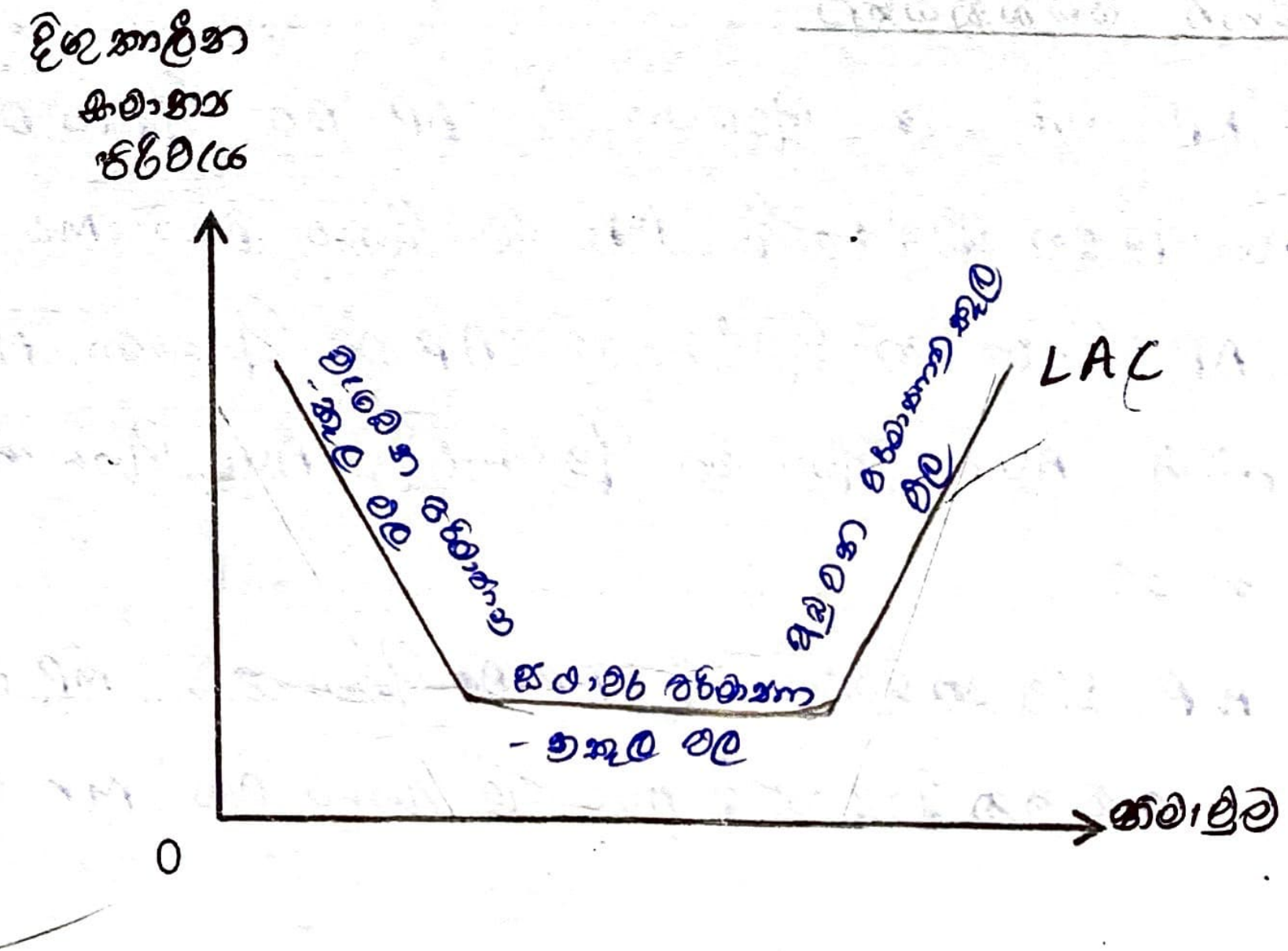

15. පරිමාණානුකූල පිරිමැසුම් සහ පරිමාණානුකූල නොපිරිමැසුම් යන සංකල්ප පැහැදිලි කරන්න.

AVC LAC

- දිගු කාලයේදී ආයතනයක සාමාන්‍ය පිරිවැය පහළ යාමට බලපාන සාධක පරිමාණානුකූල පිරිමැසුම් වේ.

01. [illegible] ශ්‍රමිකයා පහළ යාම   05. මූල්‍ය පිරිමැසුම්
02. තාක්ෂණික පිරිමැසුම්   06. අවදානම් දැරීමේ පිරිමැසුම්
03. කළමනාකරණ පිරිමැසුම්
04. අලෙවිකරණ පිරිමැසුම්

- දිගු කාලයේදී ආයතනයක සාමාන්‍ය පිරිවැය ඉහළ යාමට බලපාන සාධක පරිමාණානුකූල නොපිරිමැසුම් වේ.

01. [illegible] අවස්ථාවකින් පසු [illegible] ලබා ගැනීම අපහසු වීම.
02. මහා පරිමාණ නිෂ්පාදනයේදී ශ්‍රමිකයින්ට තමන් [illegible] යන [illegible] ඇති වීම නිසා ශ්‍රමිකයින්ගේ කාර්යක්ෂමතාව අඩු වීම
03. විශාල කර්මාන්තශාලාවක් [illegible] ආයතන කිරීමෙන් [illegible]
04. කාර්මික ආරවුල් ඇති වීම නිසා ශ්‍රමිකයින් වැඩවර්ජනවල යෙදීමෙන් පිරිවැය ඉහළ යයි. (වැඩ වර්ජන)

16. නිෂ්පාදන ආයතනයක අයභාර සංකල්ප ගණනය කරන ආකාරය පැහැදිලි කරන්න.

(අ) මුළු ආදායම / **මුළු අයභාරය** (Total Revenue - TR)

මුළු අයභාරය = මිල × අලෙවි ප්‍රමාණය	$TR = P \times Q$

(ආ) සාමාන්‍ය ආදායම / **සාමාන්‍ය අයභාරය** (Average Revenue - AR)

සාමාන්‍ය අයභාරය = $\frac{\text{මුළු අයභාරය}}{\text{අලෙවි ප්‍රමාණය}}$	$AR = \frac{TR}{Q}$

(ඉ) ආන්තික ආදායම / **ආන්තික අයභාරය** (Marginal Revenue - MR)

ආන්තික අයභාරය = මුළු අයභාරයේ වෙනස / අලෙවි ප්‍රමාණයේ වෙනස

$$MR = \frac{\Delta TR}{\Delta Q}$$

17.පහත වගුව සම්පූර්ණ කරන්න.

AR = P

අලෙවි ප්‍රමාණය (Q)	P	TR	AR	MR
100	5	500	5	5
200	10	2000	10	15
300	15	4500	15	25
400	20	8000	20	35
500	25	12500	25	45

18.ගිණුම්කරණ ලාභය සහ ආර්ථික ලාභය අතර වෙනස පැහැදිලි කරන්න.

- ගිණුම්කරණ ලාභය ගණනය කරන්නේ ව්‍යාපාරයක මුළු අයභාරයෙන් මුදල් පිරිවැය (සෘජු ගෙවීම්) අඩු කිරීමෙනි. මෙහි මුදල් පිරිවැය යනු ව්‍යාපාරයක් විසින් පිටතින් මිලදී ගන්නා සම්පත් වලට ගෙවීම් කරන ගෙවීම් ය.

ආවස්ථික පිරිවැය අන්තර්ගත නැත

ගිණුම්කරණ ලාභය = මුළු අයභාරය - මුදල් පිරිවැය

TR - TC → මුදල් පිරිවැය

- ආර්ථික ලාභය ගණනය කරන්නේ ව්‍යාපාරයක මුළු අයභාරයෙන් ආර්ථික පිරිවැය අඩු කිරීමෙනි. මෙහි ආර්ථික පිරිවැය තුළ

මුළු පිරිවැය තුළ ප්‍රකට පිරිවැය අන්තර්ගත වේ.

ආර්ථික ලාභය = මුළු ආදායම - ආවස්ථික පිරිවැය (මුළු + ආරෝපිත)   TR - TC

මුළු + ආරෝපිත

- ඒ අනුව ගිණුම්කරණ ලාභය හා ආර්ථික ලාභය අතර වෙනස වන්නේ ආරෝපිත පිරිවැයයි.

TR - TC → ආ. ලා.

19.ආර්ථික ලාභය සහ නිෂ්පාදන අතිරික්තය අතර වෙනස පැහැදිලි කරන්න.

- ආර්ථික ලාභය ගණනය කරන්නේ ව්‍යාපාරයක මුළු ආදායමෙන් ම ආවස්ථික පිරිවැය අඩු කිරීමෙනි. මෙහිදී ආවස්ථික පිරිවැය ලෙස ~~මුළු පිරිවැය~~ අන්තර සැලකෙන්නේ මුළු පිරිවැය හා අතර ඒතුල මුළු ස්ථාවර පිරිවැය මෙන්ම මුළු විචල්‍ය පිරිවැය? අන්තර්ගත වේ.
- නිෂ්පාදන අතිරික්තය ගණනය කරන්නේ මුළු ආදායමෙන් මුළු විචල්‍ය පිරිවැය අඩු කිරීමෙනි.
- එබැවින් ආර්ථික ලාභය සහ නිෂ්පාදන අතිරික්තය අතර වෙනස වන්නේ මුළු ස්ථාවර පිරිවැයයි.

20. ආර්ථික ලාභ වල ප්‍රභේද සැකෙවින් පැහැදිලි කරන්න.

i. **ප්‍රාමාණික ලාභ**

- ව්‍යවසායකයා ව්‍යවසායකත්ව කාර්යය වෙනුවෙන් අවම වශයෙන් බලාපොරොත්තු වන ලාභය ප්‍රාමාණික ලාභ වේ.
- ප්‍රාමාණික ලාභ සැලකෙන්නේ [illegible] ව්‍යවසායකයා ලෙස

අසේල වල්ලිකන්න

ව්‍යවසායකත්වය කාර්යය එම සාධකයෙන් ඉටු කරගනී.

ඇතුළත් කරුණු

- ප්‍රාමාණික ලාභ ව්‍යවසායකයාගේ ආදායම අවමයකි.
- ප්‍රාමාණික ලාභ මුළු පිරිවැයේ කොටසකි.
- ප්‍රාමාණික ලාභ ලබන විට ආර්ථික ලාභ ශුන්‍ය වේ.

ලක්ෂණ

* TR = TC (ප්‍රාමාණික ලාභ ලබන විට මුළු ආදායම මුළු පිරිවැයට සමාන වේ)

AR = ATC (

P = ATC

- ප්‍රාමාණික ලාභ උපයන විට කර්මාන්තය ප්‍රසාරණය වීමක් හෝ සංකෝචනය වීමක් සිදු නොවේ

ii. **නිෂ්ප්‍රාමාණික ලාභ**

- ප්‍රාමාණික ලාභ ඉක්මවා ලබන ලාභ නිෂ්ප්‍රාමාණික ලාභ වේ.

ඇතුළත් කරුණු

- නිෂ්ප්‍රාමාණික ලාභ ලබන විට ආර්ථික ලාභ ධනාත්මක වේ.

ලක්ෂණ

* TR > TC (නිෂ්ප්‍රාමාණික ලාභ ලබන විට මුළු ආදායම මුළු පිරිවැයට වඩා විශාල වේ)

AR > ATC

P > ATC

- නිෂ්ප්‍රාමාණික ලාභ ලබන විට කර්මාන්තය ප්‍රසාරණය වේ

iii. **අවප්‍රාමාණික ලාභ**

- ප්‍රාමාණික ලාභයට වඩා අඩුවෙන් ලාභ ලැබීම අවප්‍රාමාණික ලාභයයි.

අන්තර කාරණ

- අවප්‍රාමාණික ලාභ ලබන විට ආර්ථික අලාභ ලබයි.

ලක්ෂණ

*TR < TC (අවප්‍රාමාණික ලාභ ලබන විට ආයතනයේ මුළු ආදායම

AR < ATC මුළු පිරිවැයට වඩා කුඩා වේ).

P < ATC

- අවප්‍රාමාණික ලාභ ලබන විට කර්මාන්තය හැරයාමට ඉඩ ඇත.

21. රජයේ සේවකයෙක් ලෙස රුපියල් 60,000 ක මාසික වැටුපකට සේවය කරන පුද්ගලයෙක් රැකියාවෙන් ඉවත් වී තමාගේම යෝගට් නිපදවන ව්‍යාපාරයක් ආරම්භ කරන ලදී. ඒ සඳහා දැනට වාර්ෂිකව 10% ක් පොලී ලබන ස්ථාවර තැන්පතුවක ඇති රුපියල් ලක්ෂ 6 ක මුදලක් යොදවන ලදී. එමෙන්ම තමාට අයත් මාසික කුලී වටිනාකම රුපියල් 25,000 ක් වන ගොඩනැගිල්ලක් ව්‍යාපාරය සඳහා භාවිතා කරයි. එකක් රුපියල් 60 බැගින් යෝගට් 5000 ක් අලෙවි කරන එහි මසක කාලයක් සඳහා අදාල වන අමතර තොරතුරු පහත දැක්වේ.

600 000 × 10/100
60 000/12
= 5000

අමුද්‍රව්‍ය මිලට ගැනුම්	රු. 75,000
ශ්‍රමික වැටුප්	රු. 80,000
ප්‍රාමාණික ලාභය	රු. 50,000
විදුලි සහ දුරකථන වියදම්	රු. 10,000
මාසය ආරම්භයේ දී ව්‍යාපාරය සතු වත්කම්වල වෙළෙඳපොළ වටිනාකම	රු. 400,000
මාසය අවසානයේ දී ව්‍යාපාරය සතු වත්කම්වල වෙළෙඳපොළ වටිනාකම	රු. 380,000
ප්‍රාග්ධන ක්ෂයවීම්	රු. 15,000

20 000

i. ව්‍යාපාරයේ මාසික මූල්‍ය පිරිවැය ගණනය කරන්න.

ii. ව්‍යාපාරයේ මාසික ආරෝපිත පිරිවැය ගණනය කරන්න.

iii. ගණකාධිකාරීවරයකුට අනුව ව්‍යාපාරයේ මාසික ලාභය කොපමණ ද? ආර්ථික විද්‍යාඥයෙකුට අනුව ව්‍යාපාරයේ මාසික ලාභය කොපමණ ද?

(i) මූල්‍ය පිරිවැය

ව්‍යාපාරික ස්ථාන කුලී ගෙවීම 75 000

ශ්‍රමික වැටුප 80 000

විදුලි ජල ගාස්තු 10 000

ණය පොලිය 15 000

මුළු මූල්‍ය පිරිවැය 180 000

(ii) ආරෝපිත පිරිවැය

ව්‍යවසායකයාගේ ශ්‍රමයට හිමිවන වැටුප 60 000

ව්‍යවසායකයාගේ ප්‍රාග්ධනයට හිමිවන පොලිය $\frac{60\,000}{12} = 5\,000$

ව්‍යවසායකයාගේ ගොඩනැගිල්ලට හිමිවන කුලිය 25 000

සාමාන්‍ය ලාභය 50 000

ක්ෂයවීම 20 000

මුළු ආරෝපිත පිරිවැය ~~220~~ 160 000

(iii) ගිණුම්කරණ ලාභය = මුළු ආදායම - මූල්‍ය පිරිවැය

= (60 × 5000) - 180 000

= 300 000 - 180 000

= 120 000 /=

ආර්ථික ලාභය = මුළු ආදායම - ආර්ථික පිරිවැය

= (60 × 5000) - (180 000 + 160 000)

= 300 000 - 340 000

= - 40 000 /= (ආර්ථික අලාභයකි)

01. වෙළෙඳපොළ ව්‍යුහය ගැලීම් සටහනක් ඇසුරින් ඉදිරිපත් කරන්න.

වෙළඳපොළ ව්‍යුහය
- භා/සේ වෙළඳපොළ
  - පූර්ණ තරඟය
  - ඒකාධිකාරය
  - ඒකාධිකාරී තරඟය
  - කතිපයාධිකාරය
- සාධක වෙළඳපොළ

02. වෙළෙඳපොළ වර්ග කිරීමේදී පදනම් කරගන්නා ව්‍යුහමය ලක්ෂණ කවරේ ද?

01. විකුණන සංඛ්‍යාව
02. භාණ්ඩයේ ස්වභාවය
03. කර්මාන්තයට ඇතුළුවීම හා ඉවත් යාමේ හැකියාව
04. ප්‍රචාරණය
05. පාරිභෝගික දැනුම

03. වෙළෙඳපොළක තරඟකාරීත්වයක් හටගැනීමට අවශ්‍ය කොන්දේසි කවරේ ද?

01. භා/සේ සමජාතීයභාවයෙන් ගැනුම්කරුවන් සහ විකුණුම්කරුවන් විශාල සංඛ්‍යාවක් සිටිය යුතුය.
02. කර්මාන්තයට ඇතුළුවීම හා ඉවත් යාමේ බාධාවන් නොතිබිය යුතුය.

04.වෙළෙඳපොළක දැකිය හැකි විවිධ භාණ්ඩ වර්ග නිදසුන් සහිතව දක්වන්න.

01. සමජාතීය භාණ්ඩ - ප්‍රධාන ආදේශක

නිද :- බිත්තර , [illegible]

02. විෂමජාතීය සමාන භාණ්ඩ - සමීප ආදේශක

නිද :- [illegible] , [illegible]

03. [illegible] භාණ්ඩ - ආදේශක නොවන

නිද :- [illegible]

05.'ප්‍රවේශයට ඇති බාධා' යනුවෙන් කුමක් අදහස් වේද?

- [illegible] හෝ [illegible] ප්‍රවේශ වීමේදී [illegible] ආර්ථික බාධා පැවතීම ප්‍රවේශයට ඇති බාධා ලෙස හැඳින්වේ.
- ප්‍රවේශයට බාධා පැවතීම මගින් [illegible] ඇති තරඟකාරීත්වය සීමා වේ.

06.වෙළෙඳපොළ ව්‍යුහයන්හි ආයතනයක් සම්බන්ධයෙන් ගත යුතු නිගමන කවරේ ද?

01. ආයතනයේ [illegible]
02. ආයතනයේ [illegible]
03. ආයතනයේ [illegible]
04. ආයතනයේ දිගු කාලීන [illegible]

07. ආයතනයක මිල කෙසේ තීරණය වේද?

- ආයතනයක මිල තීරණය වන්නේ තරඟකාරීත්වය මගිනි
- පරිපූර්ණ තරඟකාරී ආකෘතියේ ක්‍රියා කරන ආයතනයක් මිල ගණුවෙකු වන අතර ඒකාධිකාරී සහ ඒකාධිකාරී තරඟකාරී ආකෘතියේ ක්‍රියා කරන ආයතනයක් මිල සකසන්නෙක් වේ.

08. 'මිල ගණුවෙක්' සහ 'මිල සකසන්නෙක්' අතර වෙනස පැහැදිලි කරන්න.

මිල ගණුවා	මිල සකසන්නා
- වෙළෙඳපොළ මිල තීරණය වී ඇති මිල කෙරෙහි බලපෑමක් කල නොහැ. ~~සියලු ආයතන මිල ගණුවන්~~	- වෙළෙඳපොළ තීරණය වී ඇති මිල කෙරෙහි බලපෑමක් කල හැකි.
- ම තා / සේ ක්‍රියාත්මක කරන ආයතන මිල ගණුවන් වේ.	තා / සේ ක්‍රියාත්මක කරන ආයතන මිල සකසන්නන් වේ.
- පරිපූර්ණ තරඟකාරී ක්‍රියාත්මක කරන ආයතන මිල ගණුවන් වේ.	- ඒකාධිකාරී සහ ඒකාධිකාරී තරඟකාරී ක්‍රියාත්මක කරන ආයතන මිල සකසන්නන් වේ.
- ~~පූර්ණ~~ පූර්ණ තරඟකාරී වෙළෙඳපොළේ සියලු ආයතන මිල ගණුවන් වේ.	- ඒකාධිකාරී, ඒකාධිකාරී තරඟ, කතිපයාධිකාරී වෙළෙඳපොළේ සියලු ආයතන මිල සකසන්නන් වේ.
- මිල ගණුවාගේ ඉල්ලුම් වක්‍රය තිරස් රේඛාවක් ලෙස සකස් වේ.	- මිල සකසන්නාගේ ඉල්ලුම් වක්‍රය පහළට බෑවුම් වේ.

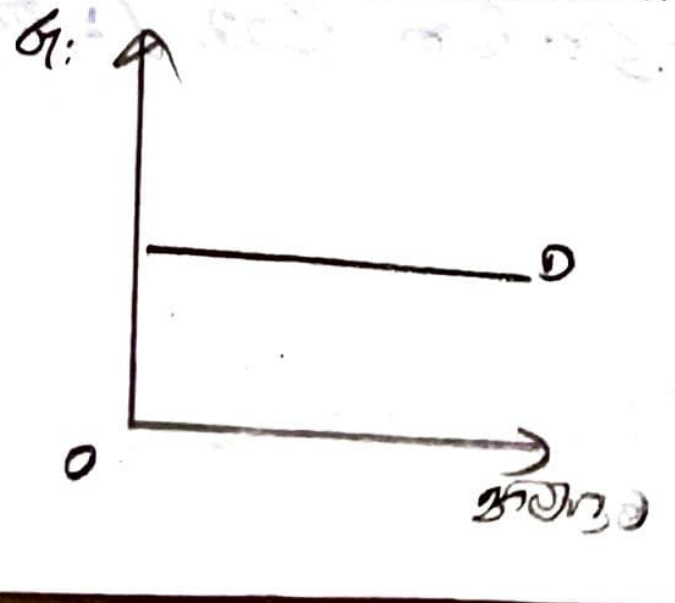

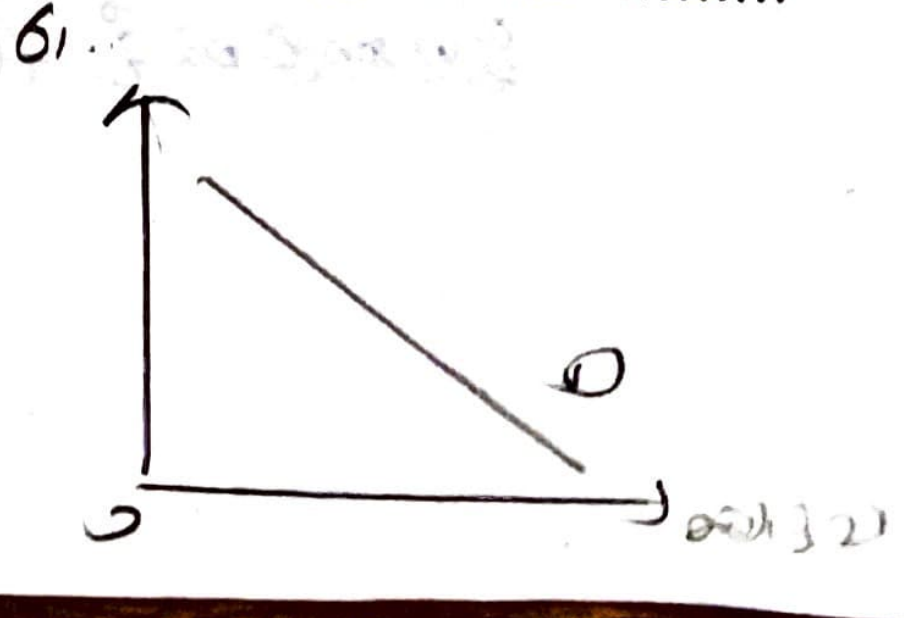

09. ආයතනයක ඉල්ලුම් වක්‍රය කෙසේ තීරණය වේද?

- ආයතනය මිල ගනු/මිලකරු නිර්ණය කරන ලෙසින් ආයතනයේ මිල වෙයි
- ආයතනය මිල ගැනුම්කරුවෙක් නම් ආයතනයේ ඉ/වක්‍රය තිරස් අක්ෂයට සමාන්තර වේ
- ආයතනය මිල සකසන්නෙක් නම් ආයතනයේ ඉ/වක්‍රය ඉහළ සිට පහළට බෑවුම් වේ

10. ආයතනයක ආන්තික අයභාරය කෙසේ තීරණය වේද?

- ආයතනයක ආන්තික අයභාරය තීරණය වන්නේ ආයතනයේ ඉ/වක්‍රය මගිනි
- ආයතනයේ ඉ/වක්‍රය තිරස් අක්ෂයට සමාන්තර වේ නම් ආන්තික අයභාරය මිල සමාන වේ. (MR = P)
- ආයතනයේ ඉ/වක්‍රය ඉහළ සිට පහළට බෑවුම් වේ නම් ආන්තික අයභාරය මිලට වඩා අඩු වේ. (MR < P)

11. ආයතනයක දිගුකාලීන ලාභය කෙසේ තීරණය වේ ද?

- ආයතනයක දිගුකාලීන ලාභය තීරණය වන්නේ කර්මාන්තයට පිවිසීම හා ඉවත්වීමේ හැකියාව මතයි
- ~~ආයතනයට~~ කර්මාන්තයට පිවිසීම හා ඉවත්වීම බාධකාරී නොවේ නම් ආයතනයට දිගුකාලයේදී ලැබිය හැක්කේ සාමාන්‍ය ලාභ පමණි
- ~~ආයතනයට~~ කර්මාන්තයට පිවිසීම හා ඉවත්වීම බාධකාරී වේ නම් ආයතනයට දිගුකාලයේදී ~~ලැබිය හැක්කේ~~ අසාමාන්‍ය ලාභ / සුපිරි ලාභය ලැබිය හැකිය

... ඉදිරිපත් කරන්න.

ලක්ෂණ / වෙළඳපොළ ව්‍යුහය	ආයතන සංඛ්‍යාව	භාණ්ඩයේ ස්වභාවය	පිවිසුම හා ඉවත්වීම	ප්‍රචාරණය
පූර්ණ තරගය (වී)	අති විශාලයි	සමජාතීයයි	බාධාකාරී නොවේ	නැත
ඒකාධිකාරය (විදුලිය සේවාව)	1	සුවිශේෂීයි	බාධාකාරී වේ	නැත
ඒකාධිකාරී තරගය (සබන් වෙළඳාම)	විශාලයි	ප්‍රභේදනය සහිතයි	බාධාකාරී නොවේ	ඇත
කතිපයාධිකාරය (රූපවාහිනී සේවා)	ස්වල්පයි	ප්‍රභේදනය සහිතයි	බාධාකාරී වේ	ඇත

...ආයතන සම්බන්ධ නිගමන ඉදිරිපත් කරන්න.

ආයතනය පිළිබඳ නිගමන / වෙළඳපොළ ව්‍යුහය	ආයතනයේ මිල	ආයතනයේ ඉල්ලුම් වක්‍රය	ආයතනයේ ආන්තික ආදායම (MR)	ආයතනයේ දිගු කාලීන ලාභය
පූර්ණ තරගය (පූ)	මිල ගැනුම්කරුවෙක් වේ	පූර්ණ නම්‍ය තිරස් අක්ෂයට සමාන්තර වේ.	MR = P	සාමාන්‍ය ලාභ ලබයි.
ඒකාධිකාරය (පූර්ණ ඒකාධිකාරය)	මිල සකසන්නෙක් වේ	පහළ සිට දකුණට බෑවුම් වේ	MR < P	අධි සාමාන්‍ය ලාභ / අලාභ ලැබිය හැක.
ඒකාධිකාරී තරගය (සිල්ලර වෙළඳාම)	මිල සකසන්නෙක් වේ.	පහළ සිට දකුණට බෑවුම් වේ	MR < P	සාමාන්‍ය ලාභ ලබයි
කතිපයාධිකාරය (රූපවාහිනී සේවා)	මිල සකසන්නෙක් වේ	පහළ සිට දකුණට බෑවුම් වේ	MR < P	අධි සාමාන්‍ය ලාභ / අලාභ ලැබිය හැක

14. පූර්ණ තරඟකාරී වෙළෙඳපොළක ලක්ෂණ කවරේ ද?

01. සමජාතීය භාණ්ඩ අලෙවි කිරීම

02. විකුණුම්කරුවන් හා ගැනුම්කරුවන් අති විශාල සංඛ්‍යාවක් සිටිය හැකි වීම.

03. කර්මාන්තයට පිවිසීම හා ඉන් ඉවත්වීම බාධාකාරී නොවීම.

04. පූර්ණ දැනුම

05. පූර්ණ සාධක සංචලතාවය

06. ප්‍රවාහන පිරිවැය නොමැති වීම.

A [illegible] B [illegible]

15. පූර්ණ තරඟකාරී ආයතනයක් සම්බන්ධයෙන් ගත හැකි නිගමන හේතු සහිතව පහදන්න.

01. ආයතනයේ මිල

[illegible] පූර්ණ තරඟකාරී වෙළෙඳපොළේ ආයතනයක් මිල ගන්නෙක් ලෙස හැසිරේ.

I) සමජාතීය භාණ්ඩ අලෙවි කිරීම

II) ආයතන අති විශාල සංඛ්‍යාවක් සිටිය හැකි වීම

III) සෑම ආයතනයකම පූර්ණ දැනුමක් ඇති වීම.

02. ආයතනයේ ඉල්ලුම් වක්‍රය

— පූර්ණ තරඟකාරී ආයතනයක් මිල ගන්නෙක් ලෙස කටයුතු කරන බැවින් ආයතනයේ ඉල්ලුම් වක්‍රය පමණක් වෙළෙඳ මිලෙහි විශාල ආදායම කරන ප්‍රමාණය ඕනෑම නොතකා පූර්ණ තිරස

පූර්ණ නම්‍යතාවක් වේ. එනම් මිල ඉල්ලුම් නම්‍යතාව අනන්ත වේ. $EdP = \infty$

03. ආයතනයේ ආන්තික ආදායම (MR)

$AR = \frac{TR}{Q}$ $MR = \frac{\Delta TR}{\Delta Q}$

- සෑම මට්ටමක ආයතනයක $AR = P$ වේ.
- පූර්ණ තරඟකාරී වෙළඳපොළේ ආයතනය ඕනෑම ප්‍රමාණයක් අලෙවි කරන බැවින් ආයතනය මිල ගන්නෙක් වේ. එම ~~මිල ගන්නෙක්~~ ආයතනයේ ඉදිරිපත් වන ඕනෑම අමතර ඒකකයක් එම මිලට අලෙවි කරන බැවින් ආයතනයේ ආන්තික ආදායම මිලට සමාන වේ. ($MR = P$)

04. ආයතනයේ දිගු කාලීන ලාභය
- පූර්ණ තරඟකාරී වෙළඳපොළේ ඇතුළුවීම හා ඉවත්වීම බාධාකාරී නොවන බැවින් ආයතනයට දිගු කාලයේදී ලැබිය හැක්කේ සාමාන්‍ය ලාභය පමණි.

16. පූර්ණ තරඟකාරී ආයතනයක ඉල්ලුම් වක්‍රය තීරණය වන ආකාරය රූප සටහනක පෙන්නුම් කරන්න.

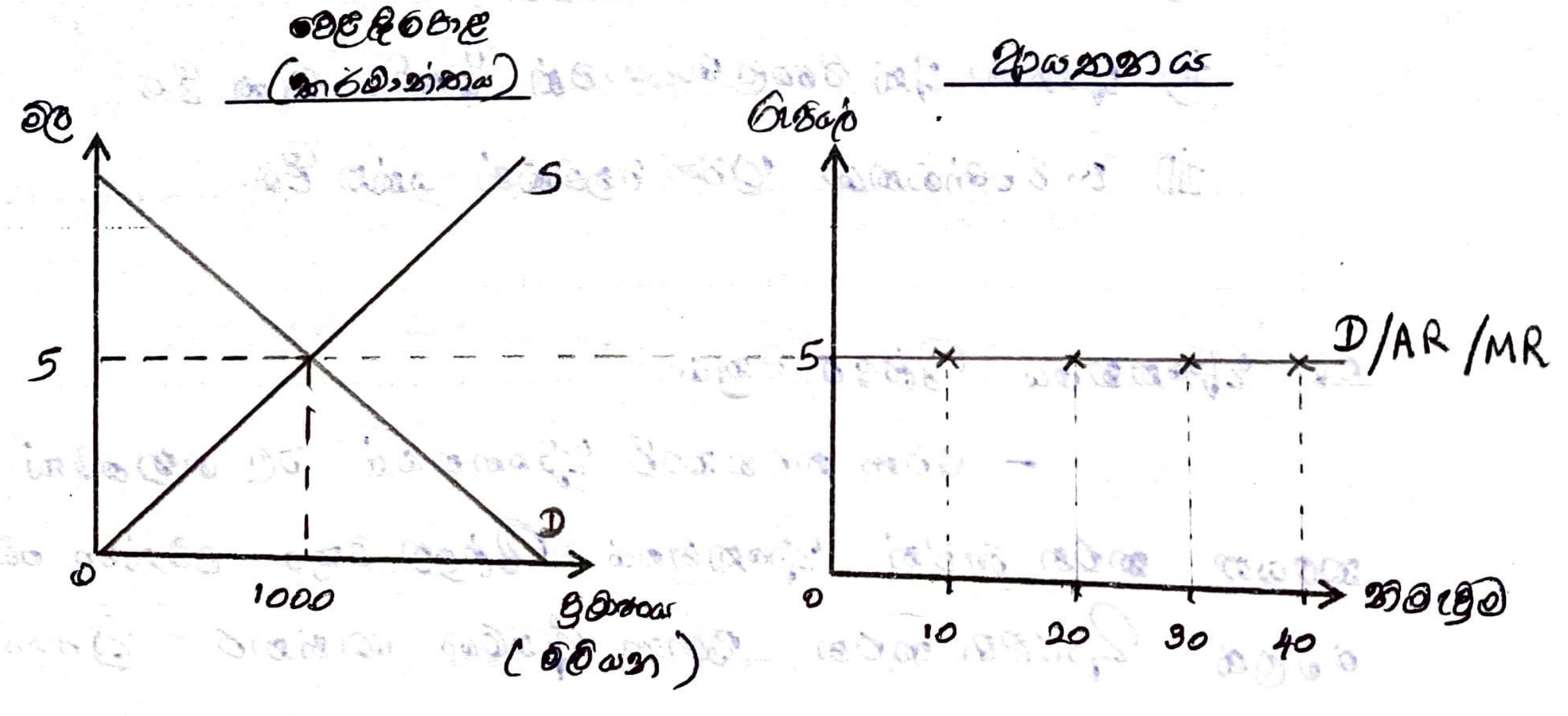

17. පූර්ණ තරඟකාරී ආයතනයක අයභාර තොරතුරු ඉදිරිපත් කරන්න.

අලෙවි ප්‍රමාණය (Q)	මිල (P)	මුළු අයභාරය TR	සාමාන්‍ය අයභාරය AR = $\frac{TR}{Q}$	ආන්තික අයභාරය MR = $\frac{\Delta TR}{\Delta Q}$
10	5	50	5	5
20	5	100	5	5
30	5	150	5	5
40	5	200	5	5

18. ඒකාධිකාරී වෙළෙඳපොළක ලක්ෂණ කවරේ ද?

01. එක් නිෂ්පාදකයෙක් පමණක් සිටිය හැකි වීම.
02. සුවිශේෂී භා./සේ. නිපදවීම කිරීම
03. නිෂ්පාදනයට ප්‍රවිෂ්ට හා ඉවත් වීමට බාධකාරී වීම.
04. ආදේශකයන් සිටිය නොහැකි වීම
05. මි. නි. නිෂ්පාදකයාගෙන් [illegible]

19. ඒකාධිකාරී වෙළෙඳපොළකට පිවිසීමට ඇති බාධක කවරේ ද?

01. පරිමාණ පිරිමැසුම් ලාභය
02. රජයේ නීතිමය බාධක
03. [illegible]

අසේල වල්ලිකොත්තා

20. ස්වභාවික ඒකාධිකාරය යනු කුමක් ද?

- කිසියම් නිෂ්පාදනයකට තමන් නිෂ්පාදන ඒකක වැඩි කළ විට සාමාන්‍ය වැඩි ප්‍රමාණයකින් පිරිවැය අඩු වන මුළු වෙළඳපොළට සැපයීම ලබා දිය හැකි නම් එම නිෂ්පාදනය ස්වභාවික ඒකාධිකාරයක් බවට පත් වේ.

- එම නිෂ්පාදනය විවිධ ආයතන කිහිපයක් තරගකාරීව නිෂ්පාදනයේ ... කරන්න ... නිෂ්පාදන ... වේ ... නිෂ්පාදන ... වේ.

ලකුණු 4

ලබන 4

21. පූර්ණ තරඟකාරී වෙළෙඳපොළ සහ ඒකාධිකාරී වෙළෙඳපොළ අතර වෙනස්කම් සඳහන් කරන්න.

පූර්ණ තරගය	ඒකාධිකාරය
01. නිෂ්පාදන ආයතන විශාල සංඛ්‍යාවක් ඇත	එක් නිෂ්පාදන ආයතනයක් ඇත
02. සමජාතීය භාණ්ඩ නිෂ්පාදනය කරයි	සුවිශේෂී භාණ්ඩ නිෂ්පාදනය කරයි
03. කර්මාන්තයට පිවිසුම හා පිටවීම බාධාවකින් තොර වේ	පිවිසුම හා පිටවීම බාධාකාරී වේ
04. නිෂ්පාදනය මිල ගනුවෙකු වේ	නිෂ්පාදනය මිල සකසන්නෙකු වේ
05. නිෂ්පාදනයේ ඉල්ලුම් වක්‍රය පූර්ණ නම්‍ය වේ	නිෂ්පාදනයේ ඉල්ලුම් වක්‍රය පහළට බෑවුම් වේ
06. නිෂ්පාදනයේ ආන්තික ආදායම මිලට සමාන වේ (MR = P)	නිෂ්පාදනයේ ආන්තික ආදායම මිලට වඩා අඩු වේ (MR < P)
07. දිගු කාලයේදී ප්‍රාමාණික ලාභ ලබයි	දිගු කාලයේදී අධි ප්‍රාමාණික ලාභ / අසාමාන්‍ය ලාභය ලබයි

22. ඒකාධිකාරි තරඟ වෙළෙඳපොළක මූලික ලක්ෂණ මොනවාද ?

01. ආයතන විශාල සංඛ්‍යාවක් දැකිය හැකි වීම
02. ප්‍රභේදිත භාණ්ඩ/සේවා නිපදවීම
03. කර්මාන්තයට පිවිසීම හා ඉවත් වීම බාධාකාරී නොවීම
04. ප්‍රචාරණයක් දැකිය හැකි වීම

ආදේශක (සමාන/ආසන්න)

23. පූර්ණ තරඟය සහ ඒකාධිකාරි තරඟය අතර සැසඳීමක් කරන්න.

සමානකම්

01. කර්මාන්තයට පිවිසීම හා ඉවත්වීම බාධාකාරී නොවීම
02. දිගු කාලයේදී ලාභය සාමාන්‍ය ලාභ වීම

අසමානකම්

පූර්ණ තරඟය	ඒකාධිකාරි තරඟය
01. සමජාතීය භාණ්ඩ හෝ සේවා නිපදවීම කරයි	ප්‍රභේදිත සහිත භාණ්ඩ නිපදවීම කරයි
02. ප්‍රචාරණයක් දැකිය නොහැකිය	ප්‍රචාරණයක් දැකිය හැක
03. ආයතනය මිල ගනුවෙකු වේ	ආයතනය මිල සකසන්නෙකු වේ
04. ආයතනයේ ඉල්ලුම් වක්‍රය පූර්ණ නම්‍ය වේ	ආයතනයේ ඉල්ලුම් වක්‍රය පහළට බෑවුම් වේ
05. ආයතනයේ MR = P වේ	ආයතනයේ MR < P වේ
06. තරඟකාරී වෙළෙඳපොළකි	අපූර්ණ වෙළෙඳපොළකි

අසේල මල්ලිකාරච්චි

24. කතිපයාධිකාරී වෙළෙඳපොළක මූලික ලක්ෂණ මොනවාද ?

01. ආයතන ස්වල්ප සංඛ්‍යාවක් දැකිය හැකි වීම

02. සමජාතීය සමාන භා/සේ. අලෙවි කිරීම

03. කර්මාන්තයට පිවිසීම හා ඉන් පිටවීම බාධාකාරී වීම.

04. ප්‍රචාරණයක් දැකිය හැකි වීම.

05. ආයතන අතර දැඩි අන්‍යෝන්‍ය රැඳියාව

06. මිල දැඩියාව

25. ඒකාධිකාරී තරඟය සහ කතිපයාධිකාරය අතර සැසඳීමක් කරන්න.

සමානතා

01. සමජාතීය සමාන භා/සේ. අලෙවි කිරීම

02. ප්‍රචාරණයක් දැකිය හැකි වීම

03. ආයතන මිල සකසන්නන් වීම

04. ආයතනයේ ඉ/වක්‍රය ඉහළ සිට පහළට බෑවුම් වේ

05. ආයතනයේ MR < P වීම

අසමානතා

ඒකාධිකාරී තරඟය	කතිපයාධිකාරය
01. ආයතන විශාල සංඛ්‍යාවක් දැකිය හැකිය	ආයතන ස්වල්ප සංඛ්‍යාවක් දැකිය හැකිය.
02. කර්මාන්තයට පිවිසුම හා පිටවුම බාධාකාරී නොවේ	03. පිවිසුම හා පිටවුම බාධාකාරී වීම.
03. දිගු කාලයේදී ප්‍රාකෘත ලාභ [illegible]	දිගු කාලයේදී අධි ප්‍රාකෘත ලාභ / අසාමාන්‍ය ලාභ ලබයි

26. පහත දැක්වෙන වගුව සම්පූර්ණ කරන්න.

Q නිමැවුම	TR මුළු අයභාරය	TC මුළු පිරිවැය	TR-TC ආර්ථික ලාභය	MR ආන්තික අයභාරය	MC ආන්තික පිරිවැය
15	175	141	34		
16	200	160	40	25	19
17	225	183	42	25	23
18	250	210	40	25	27
19	275	245	30	25	35

ලාභ උපරිම වන නිමැවුම → 17

i. මෙම ආයතනය කුමන වෙළෙඳපොළ ව්‍යුහයකට අයත් වන්නේදැයි හඳුනාගත හැකි නිර්ණායකය කුමක් ද?

– වෙළෙඳපොළ ව්‍යුහය හඳුනාගැනීමේ නිර්ණායකය වන්නේ ආන්තික අයභාරයයි. මෙම ආයතනයේ ආන්තික අයභාරය ස්ථාවර බැවින් එය පූර්ණ තරඟයට අයත් වේ.

ii. මෙම ආයතනයේ සමතුලිත නිමැවුම කමක්දැයි හේතු සහිතව පහදන්න.

– වෙළෙඳපොළ ආර්ථිකයක කටයුතු කරන සෑම ආයතනයක අරමුණ වන්නේ ලාභ උපරිම කරගැනීමයි. එම නිසා ආයතනයක සමතුලිතය ලෙස සලකන්නේ ලාභ උපරිම වන නිමැවුමයි.

(හානිය) ලාභය = TR (ලැබීම) − TC (වැයවීම)

iii. ආයතනයේ ලාභ උපරිම වන අවස්ථාවේ දැකිය හැකි විශේෂ ලක්ෂණය කුමක් ද?

– ආයතනයේ ආන්තික අයභාරය ආන්තික පිරිවැයට සමාන වීම. (MR = MC)

[illegible]

27. 'ලාභ උපරිම කිරීමේ නීතිය' යනු කුමක්දැයි පහදන්න.

(MR > MC) – නිෂ්පාදනය කරන ප්‍රමාණයකදී ආන්තික ආදායමට වඩා ආන්තික පිරිවැය අඩු නම් අමතර භාණ්ඩ ඒකකයක් නිපදවීමෙන් ලාභය ඉහළ යයි. එවිට ආයතනයේ නිමැවුම ප්‍රසාරණය කළ යුතු වේ.

(MR < MC) – නිෂ්පාදනය කරන ප්‍රමාණයකදී ආන්තික ආදායමට වඩා ආන්තික පිරිවැය වැඩි නම් අමතර භාණ්ඩ ඒකකයක් නිපදවීමෙන් ලාභය පහළ යයි. එවිට ආයතනයේ නිමැවුම සංකෝචනය කළ යුතු වේ.

(MR = MC) – නිෂ්පාදනය කරන ප්‍රමාණයකදී ආන්තික ආදායම ආන්තික පිරිවැයට සමාන නම් අමතර භාණ්ඩ ඒකකයක් නිපදවීමෙන් ලාභය වෙනස් නොවේ. උපරිම ලාභ ලබන බැවින් එවිට ආයතනය එම නිමැවුම නිෂ්පාදනය කළ යුතු ය. එබැවින් MR = MC වීම ලාභ උපරිම කිරීමේ නීතිය වේ.

පූර්ණ තරඟකාරී ආයතනයක නම් P = MC *

P = MR වන නිසා

ලාභ උපරිමවන තත්වය

28. 'වෙළෙඳපොළ සමතුලිතය' සහ 'ආයතනික සමතුලිතය' අතර වෙනස පහදන්න.

– මිල මගින් ඉල්ලුම හා සැපයුම අතර තුලනයක් ඇතිකරන අවස්ථාව වෙළෙඳපොළ සමතුලිතය ලෙස හැඳින්වේ. වෙළෙඳපොළ සමතුලිතයේ ලක්ෂණය වන්නේ ඉල්ලුම් ප්‍රමාණය හා සැපයුම් ප්‍රමාණය සමාන වීමයි. (Qd = Qs)

– ආයතනයක සමතුලිතය ලෙස සලකන්නේ ලාභ උපරිම වන නිමැවුමයි. ආයතනයක සමතුලිතයේ ලක්ෂණය වන්නේ ආන්තික ආදායම හා ආන්තික පිරිවැය සමාන වීමයි. (MR = MC)

පූර්ණ තරඟකාරී වෙළඳපොළක සමතුලිතය පූර්ණ තරඟකාරී ආයතනයක සමතුලිතය

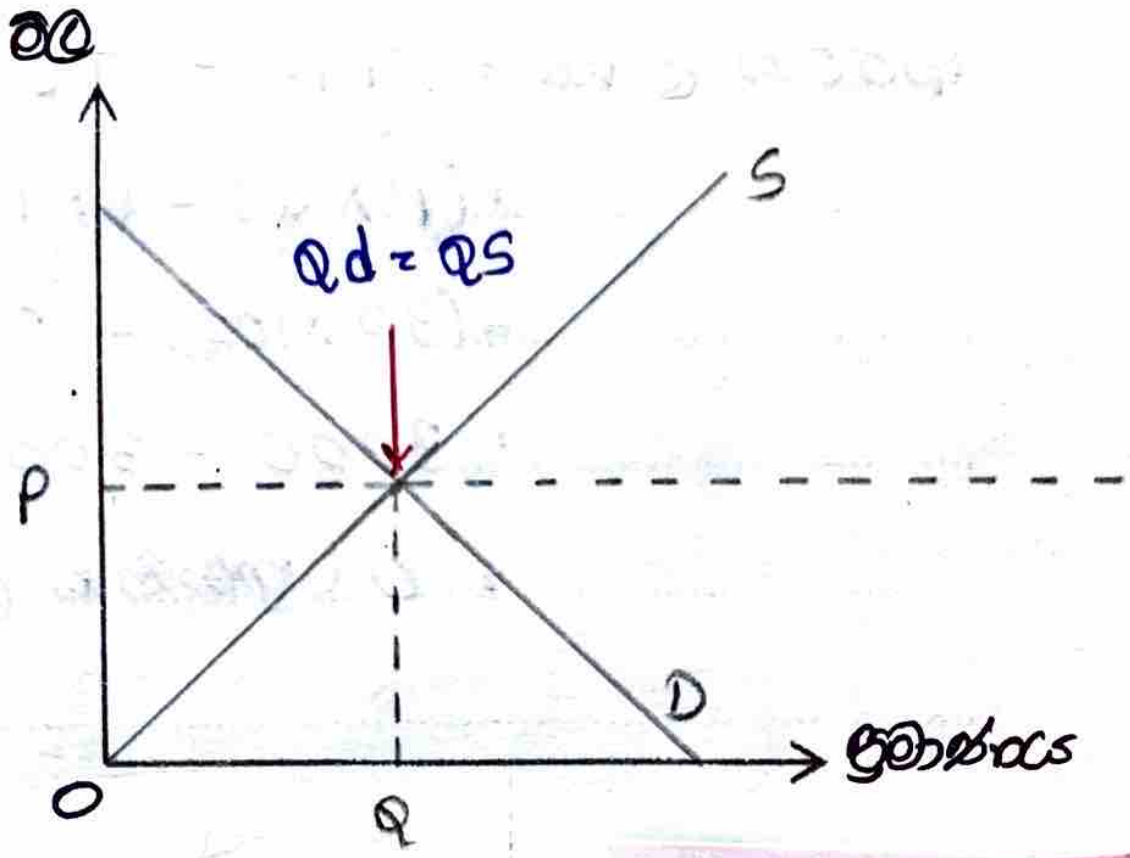

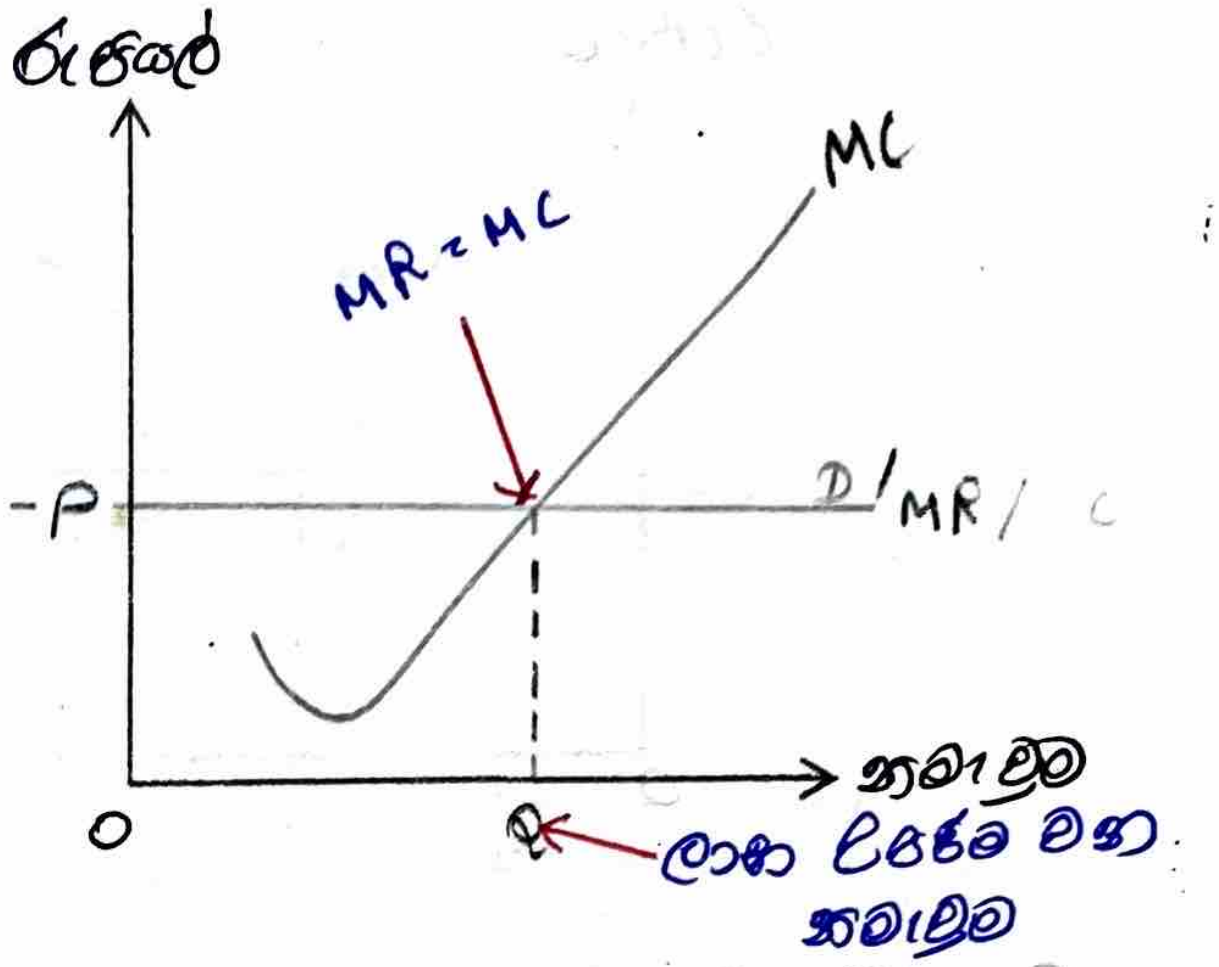

29.පහත සඳහන් දෑ රූප සටහන් ඇසුරින් පෙන්නුම් කරන්න.

(අ) කෙටිකාලයේ දී ආර්ථික ලාභ උපයන පූර්ණ තරඟකාරී ආයතනයක්

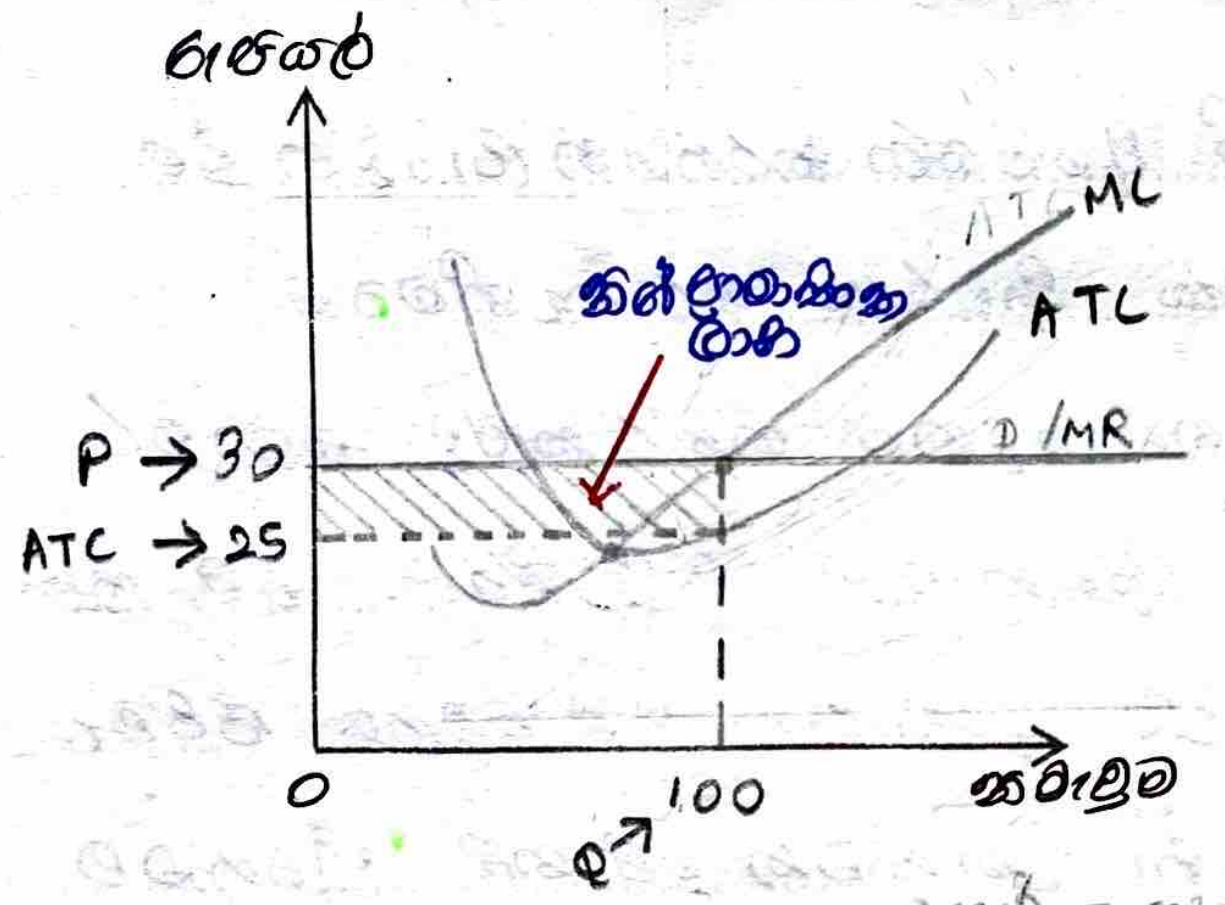

ආර්ථික ලාභය = TR − TC
= (P × Q) − (ATC × Q)
= (30 × 100) − (25 × 100)
= 3000 − 2500
= 500 (අධිසාමාන්‍ය ලාභ)

(ආ) කෙටිකාලයේ දී ආර්ථික අලාභ ලබන පූර්ණ තරඟකාරී ආයතනයක්

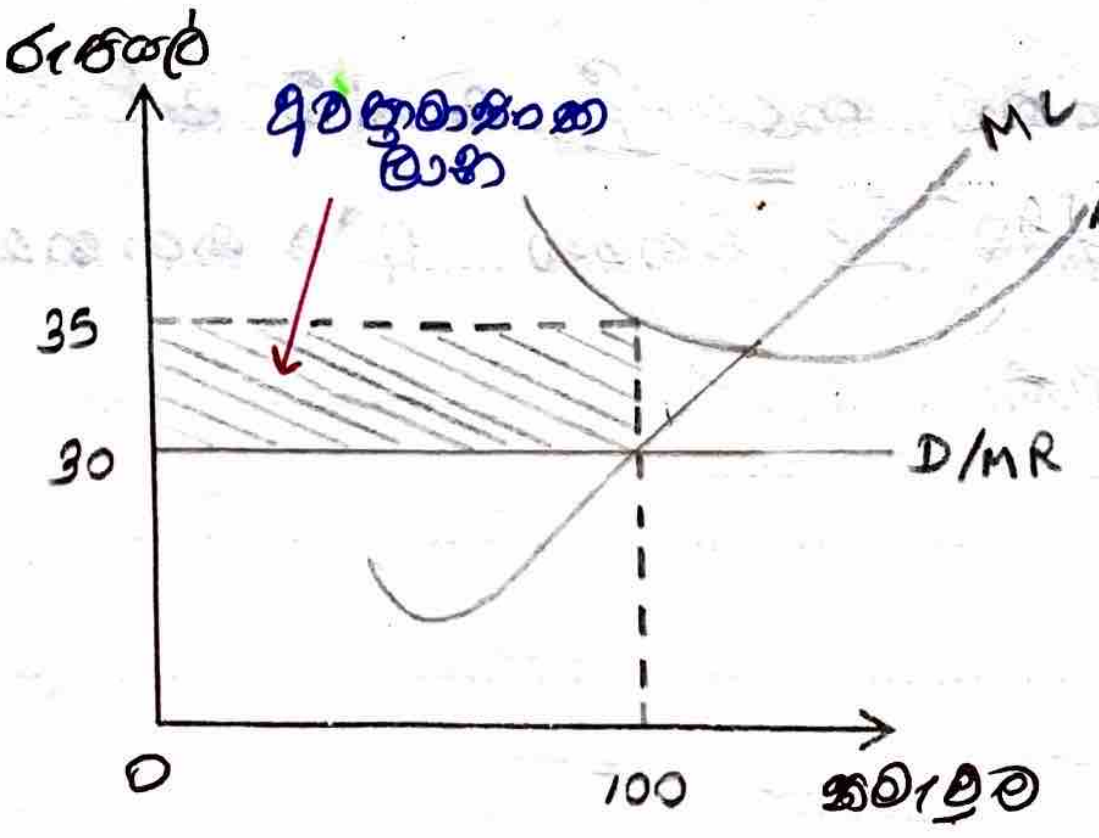

ආර්ථික ලාභය = TR − TC
= (P × Q) − (ATC × Q)
= (30 × 100) − (35 × 100)
= 3000 − 3500
= −500 (අවසාමාන්‍ය ලාභ)

P = ATC

(ඉ) කෙටිකාලයේ දී ආර්ථික ලාභ ශුන්‍ය වන පූර්ණ තරඟකාරී ආයතනයක්

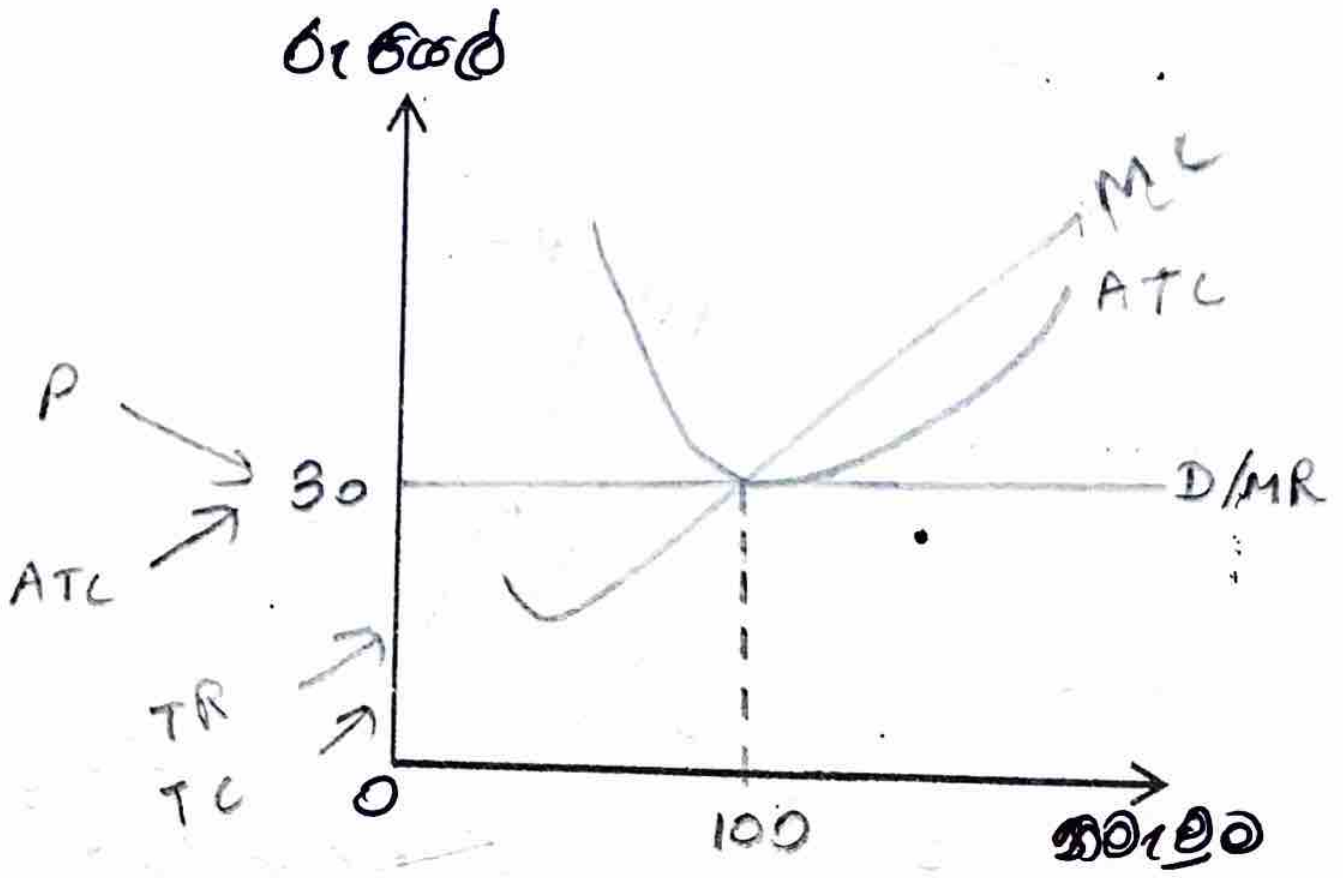

ආර්ථික ලාභය = TR - TC

= (P x Q) - (ATC x Q)

= (30 x 100) - (30 x 100)

= 3000 - 3000

= 0 (ශුන්‍ය ආර්ථික ලාභ)

1.55

අඩු මිල මගින් ආයතන වෙළෙඳපොළෙන් ඉවත් නොවේ

30. පූර්ණ තරඟකාරී ආයතනයක් කෙටි කාලයේදී භාණ්ඩ සැපයීම සඳහා අපේක්ෂා කරන අවම මිල කුමක් ද යන්න පැහැදිලි කරන්න. ~~ආයතන~~ AVC = P වේ

- ආයතනයක් කෙටි කාලයේ දී අපේක්ෂා කරන්නේ ලාභ ලැබීම මුළු ආදායමෙන් මුළු විචල්‍ය පිරිවැය ආවරණය කර ගැනීමටයි
- එය කෙටි කාලයේ දී නිෂ්පාදනය නතර කළද ස්ථාවර පිරිවැය දැරීමට ආයතනයට සිදු වීමයි. ~~එම නිසා~~ ඒ නිසා ආයතනයේ මුළු ආදායම මුළු විචල්‍ය පිරිවැය පියවා ගැනීමට හැකි නම් අඩු ලාභයක් වුවද නිෂ්පාදනය කරන ලදී.
- එම නිසා ආයතනයක් කෙටි කාලයේදී භාණ්ඩ සැපයීම සඳහා අපේක්ෂා කරන අවම මිල වන්නේ අවම සාමාන්‍ය විචල්‍ය පිරිවැයට සමාන මිලයි.

ආයතනයේ නම්

TR/Q — TVC/Q

AR — AVC

P — AVC

MC ඉහළ යන්නේ ...

ATC ලාභය ...

AVC වසා දැමීම ...

P — AVC

TR — TVC

31. පූර්ණ තරඟකාරී ආයතනයක වසා දැමීමේ ලක්ෂ්‍යය රූප සටහනක පෙන්නුම් කරන්න.

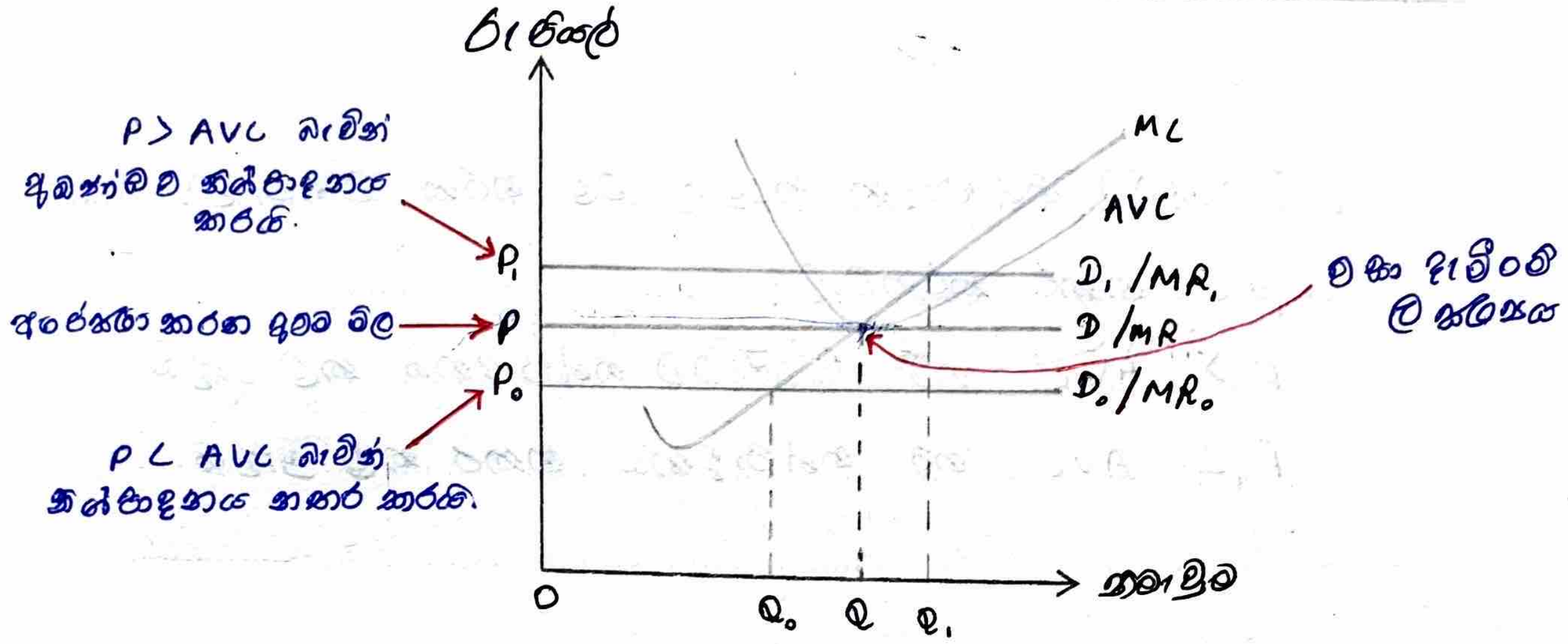

32. පූර්ණ තරඟකාරී ආයතනයක සැපයුම් වක්‍රය කුමක්දැයි පැහැදිලි කරන්න.

- පූර්ණ තරඟකාරී ආයතනයක් නිපදවන්නේ ලාභ උපරිම වන හෝ අලාභ අවම වන නිමැවුමකි. එම අවස්ථාවේ දී ලාභය හැකි උපරිමය වන්නේ ආන්තික ආදායම ආන්තික පිරිවැයට සමාන වීමයි. (MR = MC)
- ආයතනයක් නිෂ්පාදනයේ රැඳී සිටීම සඳහා අපේක්ෂා කරන අවම මිල වන්නේ අවම සාමාන්‍ය විචල්‍ය පිරිවැයට සමාන මිලකි. එම නිසා ආයතනයේ සැපයුම් වක්‍රය ලෙස සලකන්නේ සාමාන්‍ය විචල්‍ය පිරිවැය වක්‍රයට ඉහළින් පිහිටි ආන්තික පිරිවැය වක්‍රයයි.

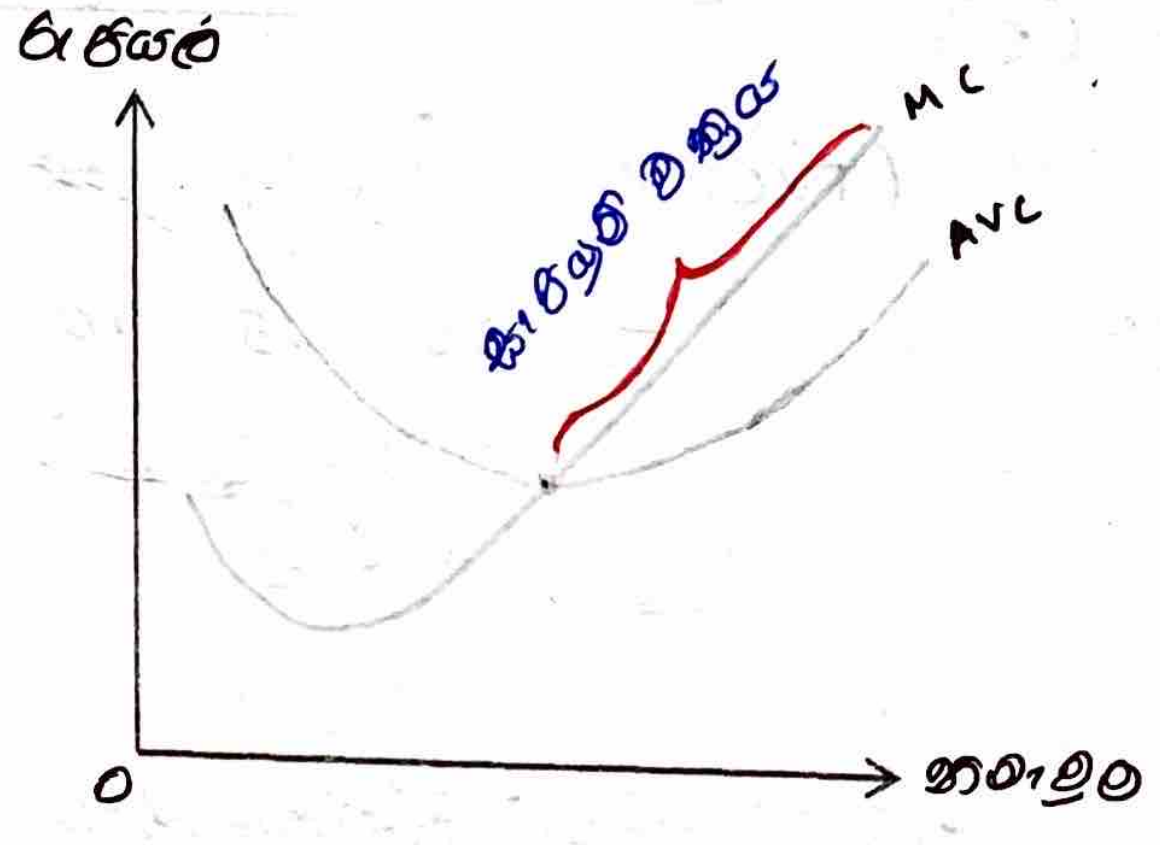

33. පූර්ණ තරඟකාරී ආයතනයක් විසින් කෙටිකාලයේදී ගත යුතු වැදගත් තීරණ දෙක පැහැදිලි කරන්න.

01. දිගටම නිෂ්පාදන කටයුතු කර ගෙන යනවා ද? නිෂ්පාද නය නතර කරනවා ද?

P > AVC නම් දිගටම නිෂ්පාදනය කළ යුතුයි.

P < AVC නම් නිෂ්පාදනය නතර කළ යුතුයි.

02. නිපදවන්නේ කොපමණ නිමවුමක් ද?

ආයතනයක් විසින් සෑම විටම නිපදවිය යුත්තේ ලාභ උපරිම වන හෝ අලාභ අවම වන නිමවුමකි. ලාභ උපරිම කිරීමේ නීතිය MR = MC වේ. ආයතනය පූර්ණ තරඟකාරී නම් P = MC ලෙසද භාවිතා කළ හැක.

34. මුළු ස්ථාවර පිරිවැය 80 ක් වන පූර්ණ තරඟකාරී ආයතනයක පිරිවැය සම්බන්ධ පහත තොරතුරු ඔබට සපයා ඇත.

නිමවුම් ඒකක (Q)	0	1	2	3	4	5
මුළු විචල්‍යය පිරිවැය (TVC)	0	20	35	45	60	80
(MC)	–	20	15	10	15	20

MC වක්‍රයේ බෑවුම ධන විය යුතු නිසා හෙවත් 5 යුතු MC ඉහළ යන අවස්ථාව වන නිසා

භාණ්ඩයේ වෙළෙඳපොළ මිල රුපියල් 15 ක් නම් ලාභ උපරිම කිරීම සඳහා ආයතනය විසින් නිපදවිය යුතු ඒකක ප්‍රමාණය කොපමණ ද?

ලාභ උපරිම කරන නිමැවුම ඒකක 4 කි (P = MC)

35. **පූර්ණ තරඟකාරී වෙළෙඳපොළක කටයුතු කරන නිෂ්පාදන ආයතනයක් අවප්‍රාමාණික ලාභ ලබමින් වුව ද අඛණ්ඩව නිෂ්පාදනයේ නිරත වන අවස්ථාවක් රූප සටහනක් ඇසුරින් පැහැදිලි කරන්න.**

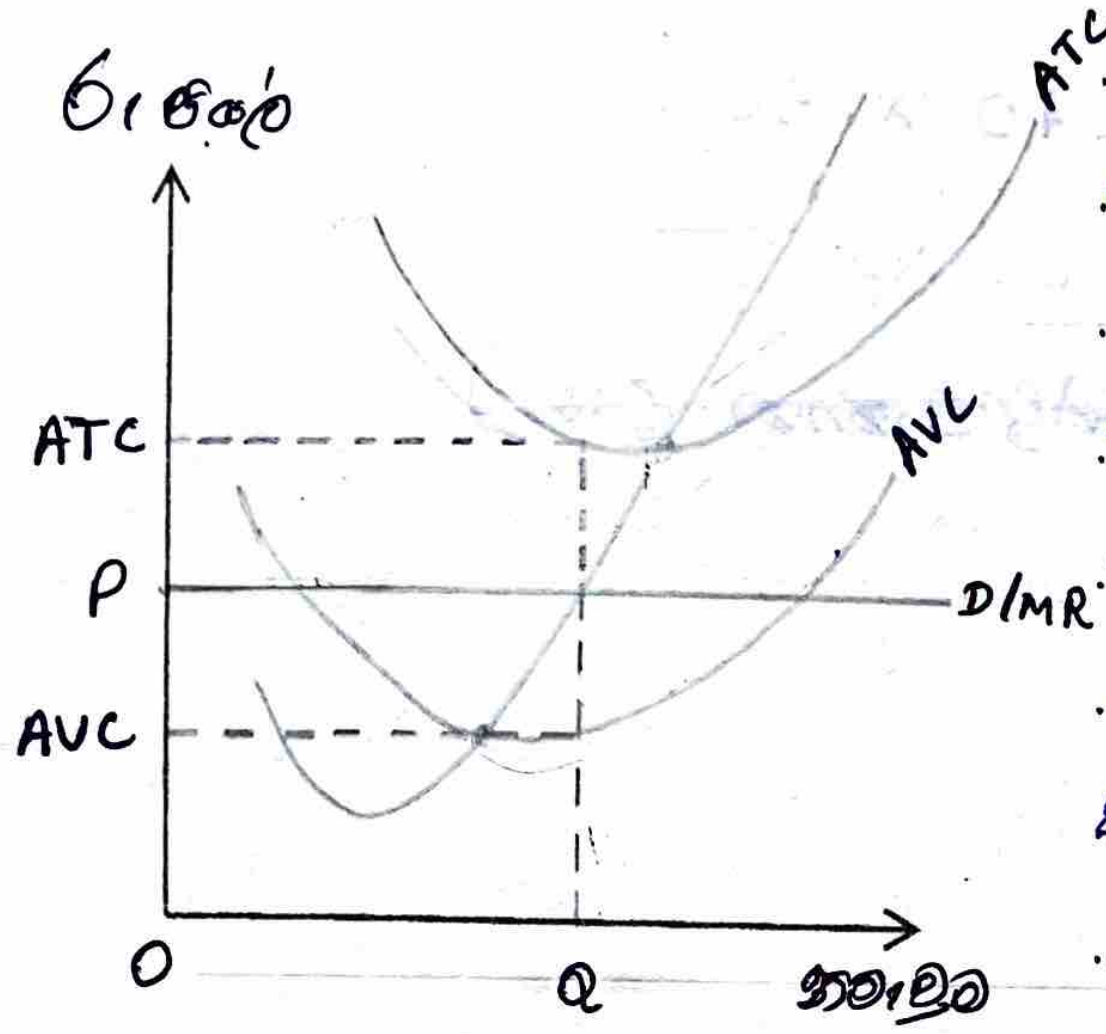

- P < ATC වන බැවින් TR < TC වේ. එබැවින් ආයතනය අවප්‍රාමාණික ලාභ ලබයි.
- P > AVC බැවින් TR > TVC වේ. එවිට මුළු ආදායම මුළු විචල්‍ය පිරිවැය ආවරණය කිරීමට ප්‍රමාණවත් වන බැවින් අඛණ්ඩව නිෂ්පාදනයේ නිරත වේ.

36. **පූර්ණ තරඟකාරී ආයතනයක කෙටිකාලීන පිරිවැය සහ අයභාර ව්‍යුහය පහත රූප සටහනේ දැක්වේ.**

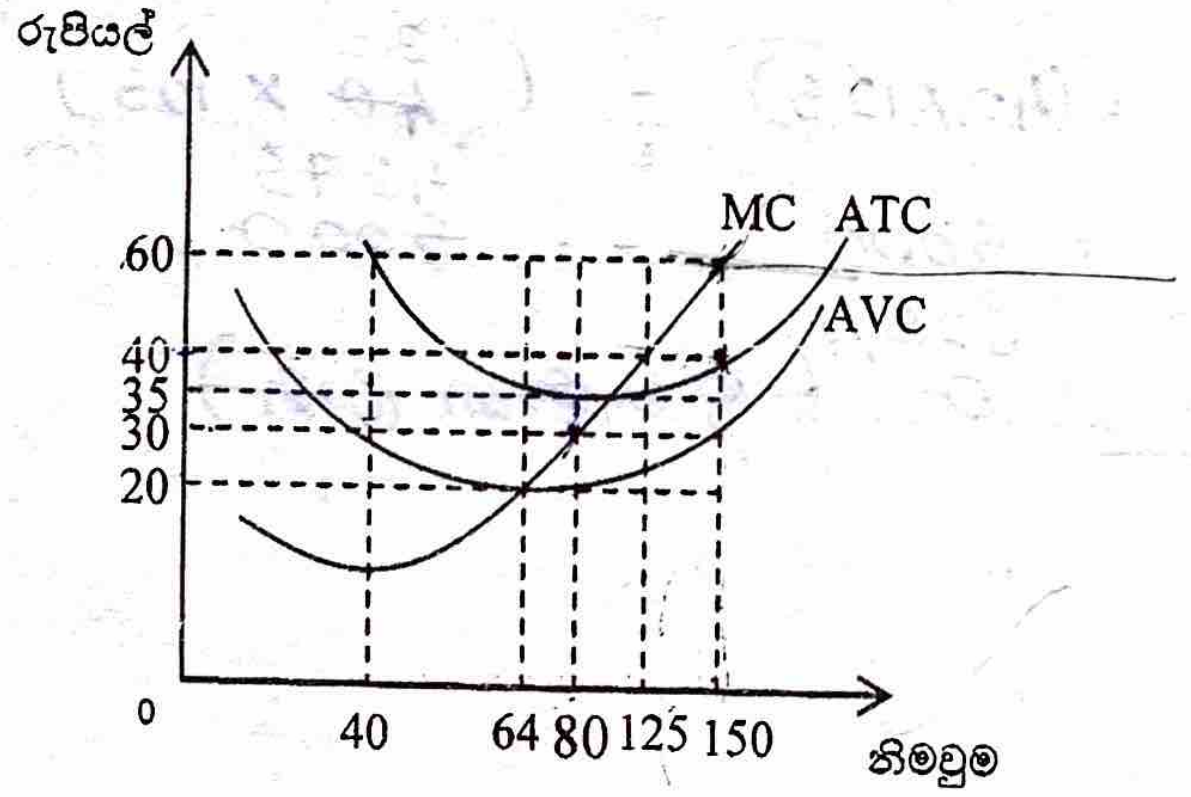

i. වෙළෙඳපොළ මිල රු. 60 ක් නම්,

(අ) ලාභ උපරිමනය සඳහා ආයතනයේ නිමවුම කොපමණ විය යුතු ද?

ඒකක 150

(ආ)එම අවස්ථාවේ ආයතනයේ ලාභය හෝ අලාභය කොපමණ ද?

ලාභය = TR - TC

= (P x Q) - (ATC x Q)

= (60 x 150) - (40 x 150)

= 9000 - 6000

= 3000/= (~~අසාමාන්‍ය ලාභ~~)

ii. වෙළෙඳපොළ මිල රු. 40 ක් නම්,

(අ) ලාභ උපරිමනය සඳහා ආයතනයේ නිමවුම කොපමණ විය යුතු ද?

ඒකක 125

(ආ)එම අවස්ථාවේ ආයතනයේ ලාභය හෝ අලාභය කොපමණ ද?

ලාභය = TR - TC

= (P x Q) - (ATC x Q)

= (40 x 125) - (~~40~~ 35 x 125)

= 5000 - ~~5000~~ 4375

= ~~0~~ 625/= (~~සාමාන්‍ය ලාභ~~)

iii. වෙළෙඳපොළ මිල රු. 30 ක් නම්,

(අ) ලාභ උපරිමනය සඳහා ආයතනයේ නිමවුම කොපමණ විය යුතු ද?

ඒකක 80

(ආ) එම අවස්ථාවේ ආයතනයේ ලාභය හෝ අලාභය කොපමණ ද?

ලාභය = TR - TC
= (P × Q) - (ATC × Q)
= (30 × 80) - (~~20~~ 35 × 80)
= 2400 - ~~1600~~ 2800
= ~~800~~ -400 /= (අලාභයකි)

iv. මෙම ආයතනය කෙටිකාලයේ දී නිෂ්පාදනයේ නිරත වීම සඳහා අපේක්ෂා කරන අවම මිල කුමක් ද?

අවම සාමාන්‍ය විචල්‍ය පිරිවැය = රු. 20.

v. මෙම භාණ්ඩයේ වෙළෙඳපොළ මිල රුපියල් 30 ක් නම් ආයතනය තව දුරටත් නිෂ්පාදන කටයුතු වල නිරත විය යුතු ද? පහදන්න.

- තවදුරටත් නිෂ්පාදන කටයුතු වල නිරත විය යුතුය.
- රු. 30 ක මිල ආයතනය අපේක්ෂා කරන අවම මිල වන රු. 20 ට වඩා වැඩි අගයකි.
- එවිට ආයතනයේ P > AVC බැවින් ආයතනයේ මුළු ආදායමට වඩා මුළු විචල්‍ය පිරිවැය කුඩා වේ. එවිට ආයතනයේ මුළු ආදායමෙන් මුළු විචල්‍ය පිරිවැය ආවරණය කරගත හැකි බැවින් තව දුරටත් නිෂ්පාදනයේ නිරත විය යුතුය.

37. පූර්ණ තරගකාරී නිෂ්පාදන ආයතනයක් කෙටි කාලයේ දී පහත සඳහන් එක් එක් තත්ත්වයනට මුහුණපෑමට පුළුවන. ඒ එක් එක් අවස්ථාවේ දී ආයතනය කෙටි කාලයේ දී නිෂ්පාදනයේ යෙදිය යුතු ද ? නැතහොත් කෙටි කාලයේ දී වසා දැමිය යුතු ද ? එසේත් නැතහොත් කෙටි කාලයේ දී ආයතනය කුමක් කළ යුතු ද යන්න තීරණය කිරීමට තවත් අතිරේක තොරතුරු අවශ්‍ය වේද ? යන්න සඳහන් කරන්න.

TFC > TR

i. සෑම නිමැවුම් මට්ටමක දී ම මුළු පිරිවැය මුළු අයභාරය ඉක්මවා යයි.

- අතිරේක තොරතුරු අවශ්‍ය වේ.

TVC > TR

ii. සෑම නිමැවුම් මට්ටමක දී ම මුළු විචල්‍ය පිරිවැය මුළු අයභාරය ඉක්මවා යයි.

- වසා දැමිය යුතුය.

TR > TFC

iii. සෑම නිමැවුම් මට්ටමක දී ම මුළු අයභාරය මුළු ස්ථාවර පිරිවැය ඉක්මවා යයි.

- අතිරේක තොරතුරු අවශ්‍ය වේ.

P > ATC

iv. සෑම නිමැවුම් මට්ටමක දී ම මිල සාමාන්‍ය මුළු පිරිවැය ඉක්මවා යයි.

- නිෂ්පාදනයේ යෙදිය යුතුය.

38. 'සාධක වෙළෙඳපොළ' යනු කුමක් ද?

- නිෂ්පාදන සාධක ~~සාධක~~ සඳහා පවතින ඉල්ලුම හා සැපයුම මගින් නිෂ්පාදන සාධක වල මිල සහ ප්‍රමාණය තීරණය වන වෙළඳපොළ සාධක වෙළඳපොළ නම් වේ.
- සාධක වෙළඳපොළේ ගැනුම්කරුවන් වන්නේ ව්‍යාපාර ආයතන වන අතර විකුණුම්කරුවන් වන්නේ කුටුම්භ ඒකකයයි.
- සාධක වෙළඳපොළේ ඉල්ලුම වනුයේ ව්‍යුත්පන්න ඉල්ලුමකි.

39. සංක්‍රාම ඉපයුම සහ ආර්ථික බදුකුලිය අතර වෙනස පහදන්න.

- නිෂ්පාදන සාධකයක් වත්මන් භාවිතයෙන් ඉවතට ඊළඟම විකල්ප භාවිතයට නොයා සිටීම සඳහා සාධක හිමියා අපේක්ෂා කරන අවම ඉපයීම සංක්‍රාම ඉපයුම නම් වේ.

- සංක්‍රාම ඉපයුමෙන් පෙන්නුම් කරනුයේ සාධකයේ ආවස්ථික පිරිවැය වේ. නිෂ්පාදන සාධකයක සැපයුම් වක්‍රයෙන් පෙන්නුම් කරන්නේ ඒ ඒ ඒකකය සැපයීම සඳහා සැපයුම්කරුවා බලාපොරොත්තුවන අවම මිල බැවින් සැපයුම් වක්‍රයට පහළින් කොටසින් පෙන්නුම් කරන්නේ සංක්‍රාම ඉපයුමයි.

- නිෂ්පාදන සාධකයක සමස්ත ඉපයුම තුළ ඇති සංක්‍රාම ඉපයුම ඉක්මවා ලැබෙන කොටස ආර්ථික බදුකුලිය වේ.

ආර්ථික බදුකුලිය = සමස්ත ඉපයුම - සංක්‍රාම ඉපයුම

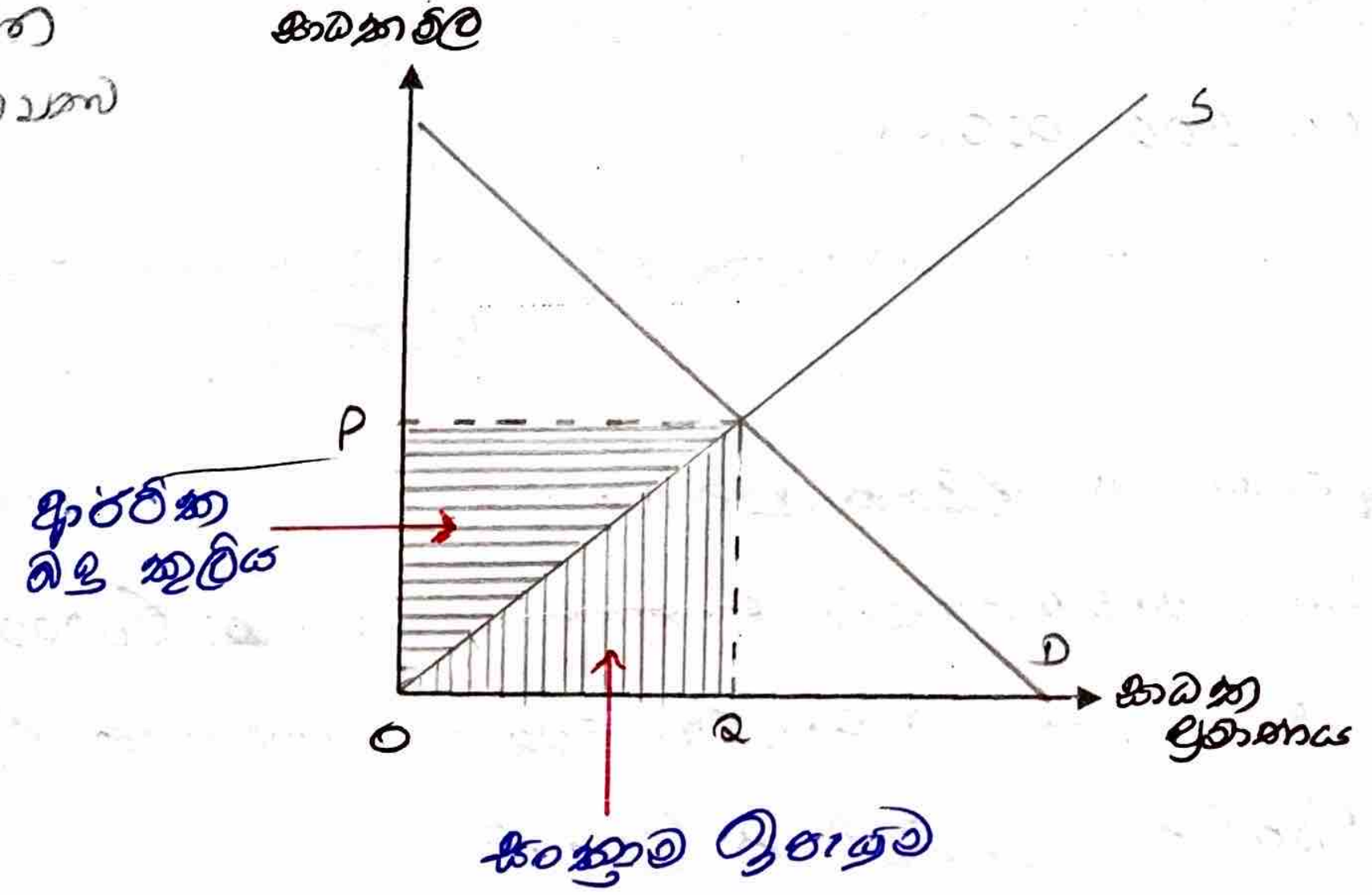

40.පහත සඳහන් අවස්ථාවලදී සංක්‍රාම ඉපයුම සහ ආර්ථික බදු කුලිය තීරණය වන ආකාරය පෙන්වන්න.

i. පූර්ණ අනම්‍ය සැපයුම

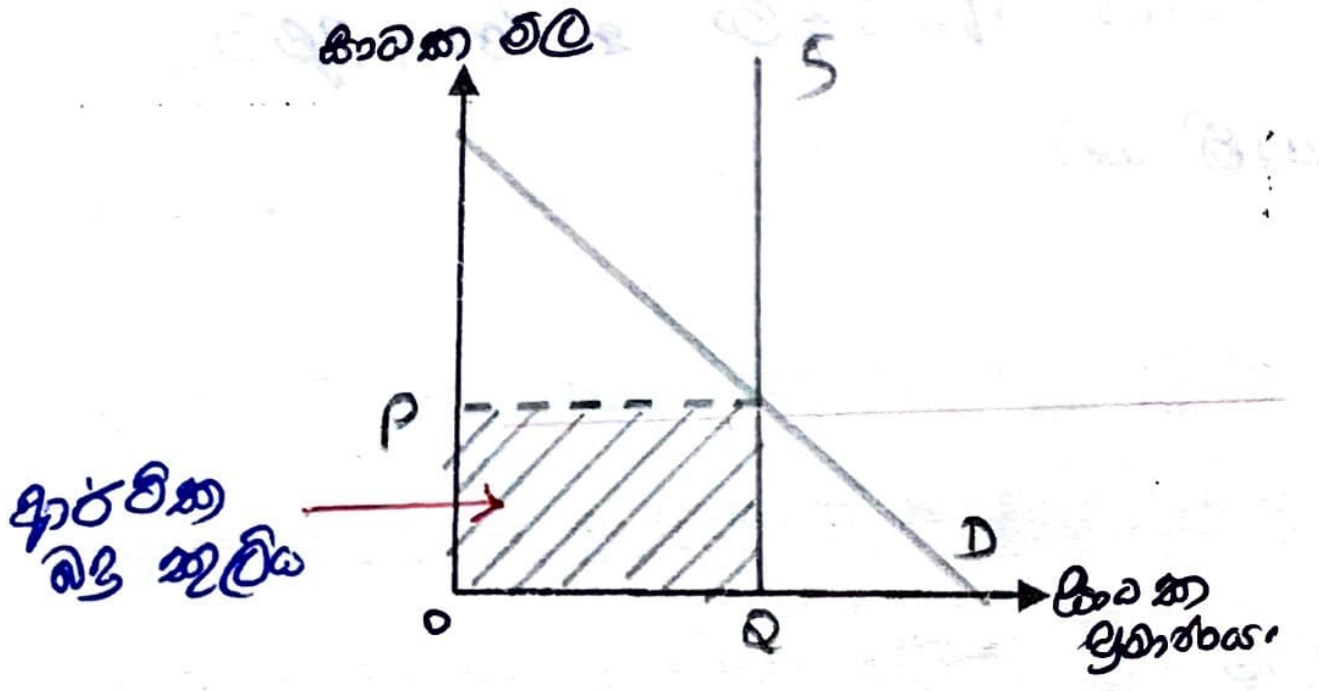

ii. පූර්ණ නම්‍ය සැපයුම

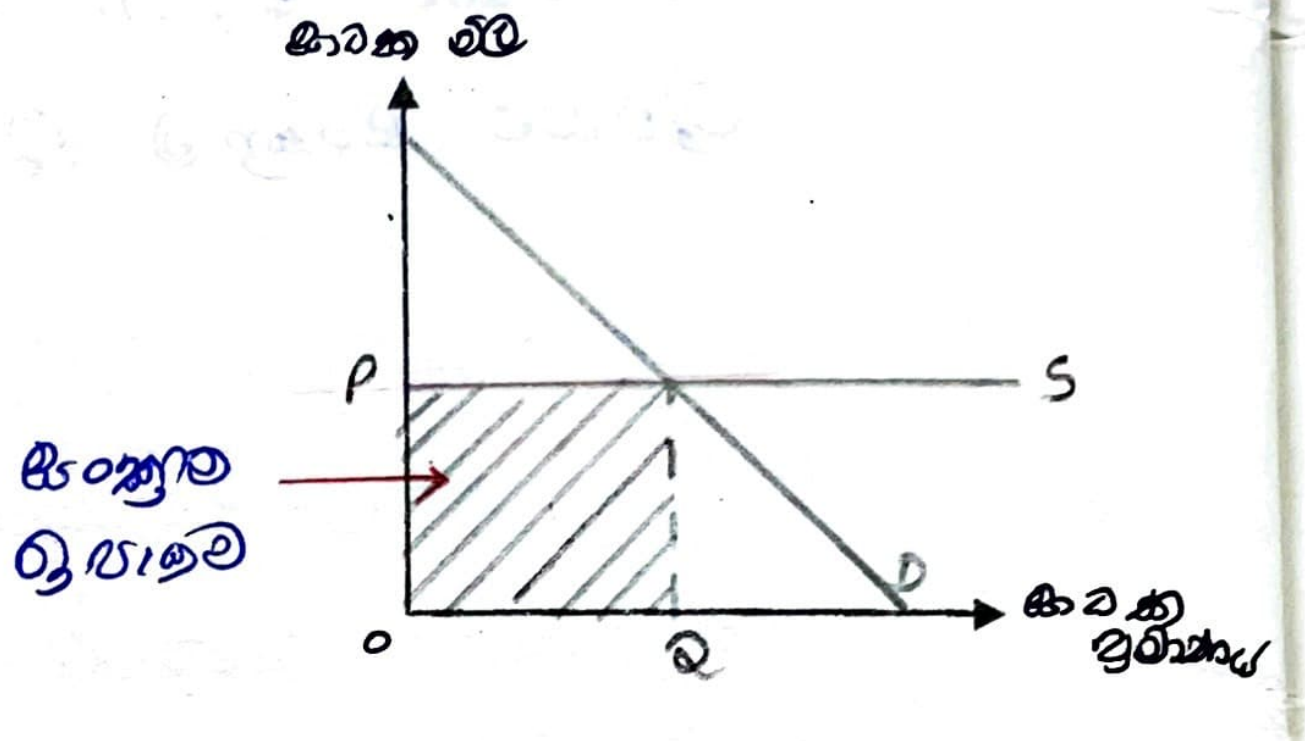

41.“මසකට රු. 200 000 ක වැටුපක් ලබමින් පරිගණක මෘදුකාංග ඉංජිනේරුවරියක, ව්‍යවසායිකාවක වීමට තීරණය කොට තමන්ගේ මෘදුකාංග සංවර්ධන ආයතනයක් ආරම්භ කරමින්, ව්‍යවසායිකාවක වූ අතර, ඇය එම ආයතනයෙන් මසකට රු. 500 000 ක් උපයයි.”

(අ)මෙම ව්‍යවසායිකාවගේ සංක්‍රාම ඉපයීම කොපමණ ද?

රු. 200 000

(ආ)මෙම ව්‍යවසායිකාව ආර්ථික බදු කුලියක් උපයන්නේ ද? ඔබගේ පිළිතුර පැහැදිලි කරන්න.