01. ආර්ථික කාරක අතර පවත්නා අන්තර් සම්බන්ධතා රූප සටහනක් ආශ්‍රයෙන් පැහැදිලි කරන්න.

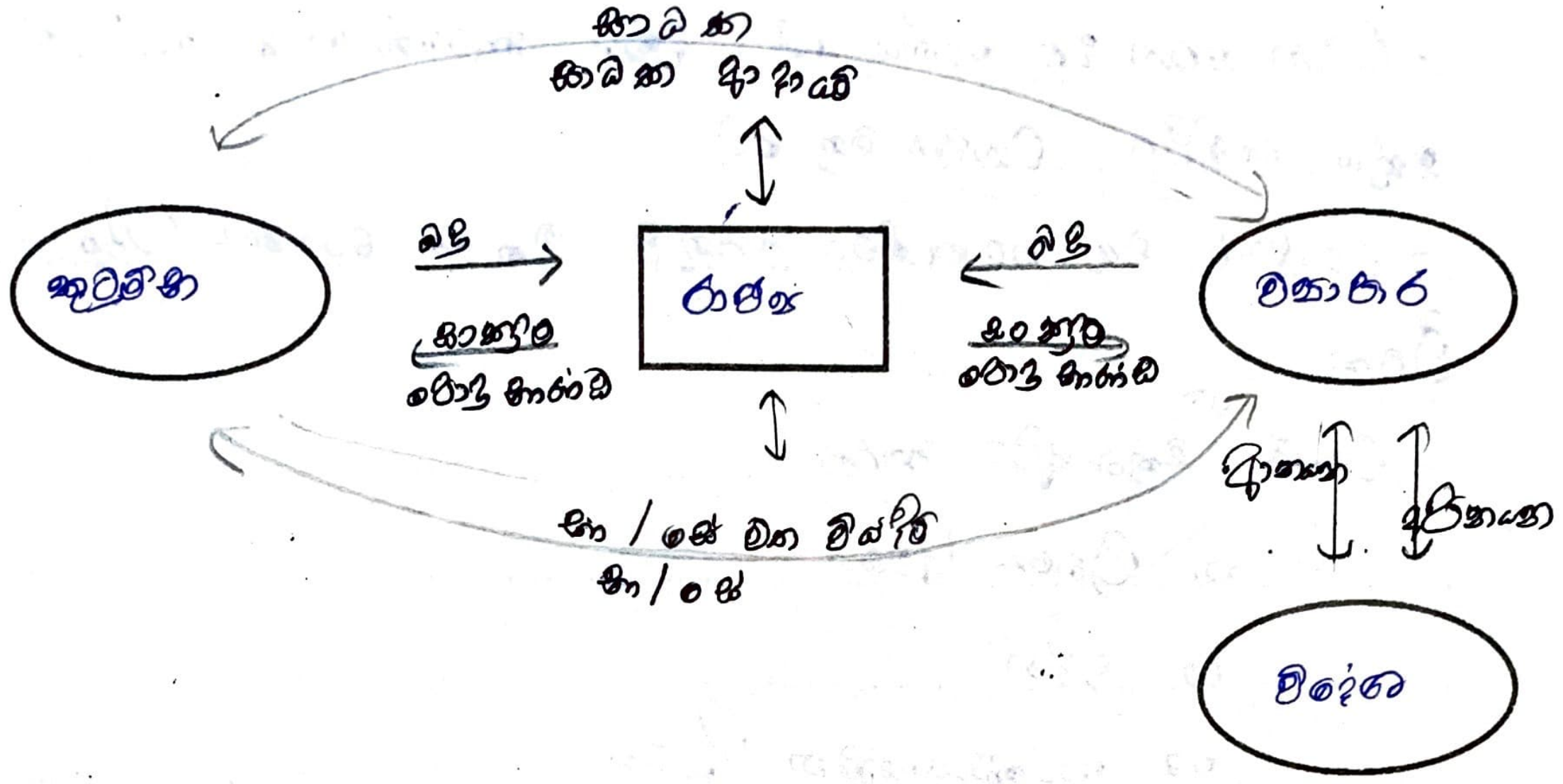

- කුටුම්භ අංශය විසින් ව්‍යාපාර අංශයට හා රාජ්‍ය අංශයට සාධක සැපයීම සාධක ආදායම් ලැබීම.
- ව්‍යාපාර අංශය විසින් කුටුම්භ අංශයෙන් සාධක මිලදී ගෙන භා/සේ නිෂ්පාදනය කොට එම භා/සේ කුටුම්භ අංශයට හා රාජ්‍ය අංශයට සැපයීම
- රාජ්‍ය අංශය විසින් කුටුම්භ අංශයෙන් හා ව්‍යාපාර අංශයෙන් බදු අයකරගෙන ඔවුන්ට අවශ්‍ය සංක්‍රාම හා පොදු භාණ්ඩ සැපයීම.
- විදේශ අංශය ව්‍යාපාර අංශය සමග ආනයන හා අපනයන සම්බන්ධතාවල නිරත වීම.

02. 'ව්‍යාපාර චක්‍ර' යන්නෙන් කුමක් අදහස් වේ දැයි පැහැදිලි කරන්න.

- රටක මූර්ත ද.ළ. දේශීය නිෂ්පාදනය කාලයත් සමග උච්චාවචනය කරන ක්‍රියාව හැඳින්වීම ව්‍යාපාර චක්‍ර වේ.

- [illegible]

- ව්‍යාපාර චක්‍රයේ අවධි හතරකි

01. ප්‍රසාරණ අවධිය
02. මුදුන
03. සංකෝචනාත්මක අවධිය
04. පතුල

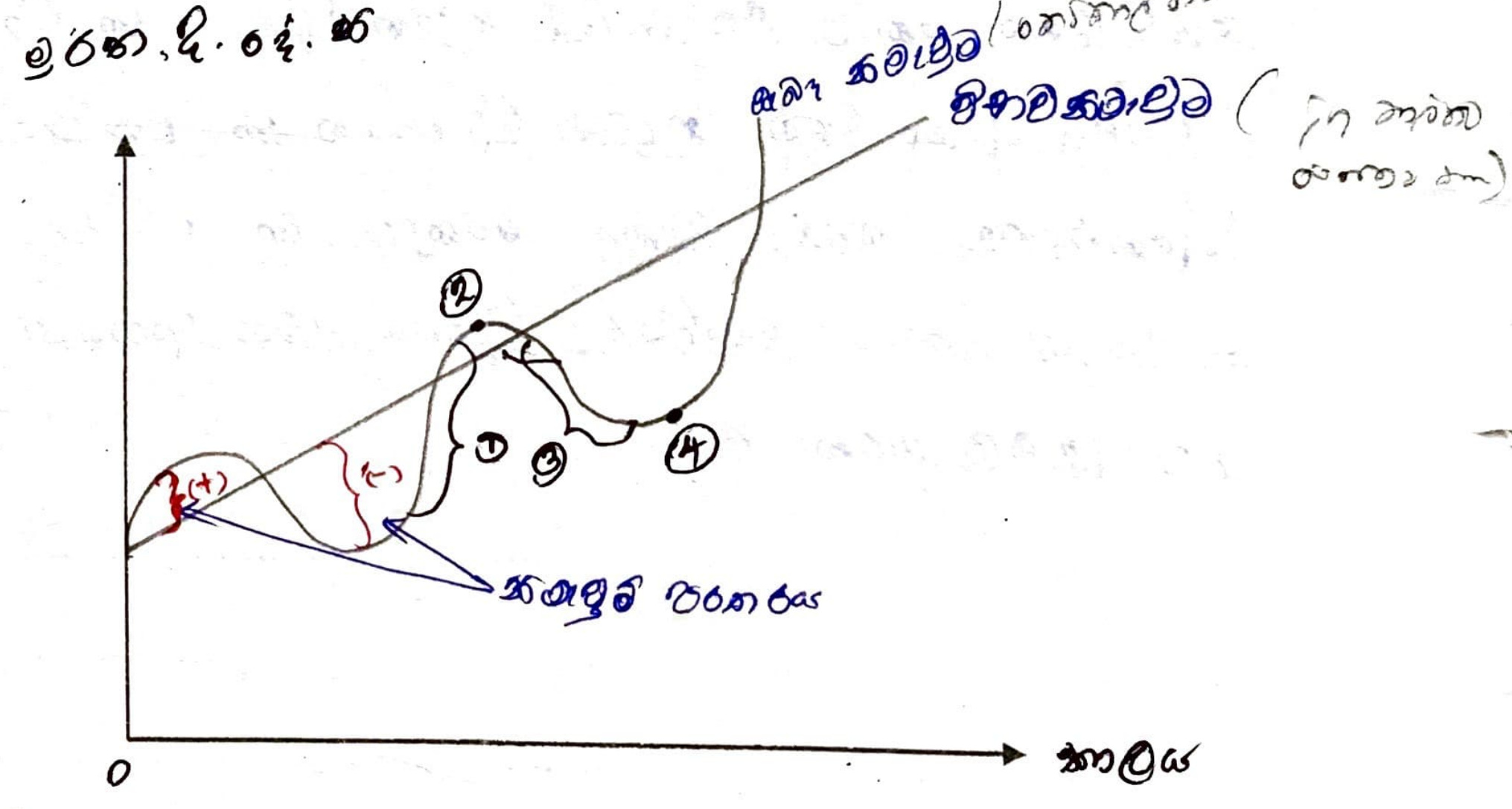

1. ප්‍රසාරණ අවධිය
2. මුදුන
3. සංකෝචනාත්මක අවධිය
4. පතුල

03. ' විභව නිමැවුම් මට්ටම ' යන්නෙන් කුමක් අදහස් වේ ද?

– කිසියම් ආර්ථිකයක ආර්ථිකයේ පවතින සම්පත් සියල්ල යොදවමින් උද්ධමනය ඉහළ නොයන පරිදි ලබාගත හැකි දළ දේශීය නිෂ්පාදනයේ විභවතාව විභව නිමැවුම වේ.

04. ' ආර්ථික පසු බැසීම ' සහ ' ආර්ථික අවපාතය ' අතර වෙනස පැහැදිලි කරන්න.

– රටක මූර්ත ද.දේ.නි. හා සේවා නිෂ්පාදනය මාස හයක් අඛණ්ඩව පහළ යාම ආර්ථික පසුබැසීම වේ.

– එහිදී රටක මූර්ත ද.දේ.නි. කාර්තු දෙකකට අඩු නොවන කාලයක් අඛණ්ඩව පහළ යයි.

– ආර්ථික පසු බැසීමට හේතුව වන්නේ සමස්ත ඉල්ලුමේ පහළ යාමයි.

– ආර්ථික පසුබැසීම වල වඩාත් දරුණු හා බරපතල තත්ත්වයක් ආර්ථික අවපාතයක් ලෙස හැඳින්වේ.

– ආර්ථික අවපාතයේදී රටක මූර්ත ද.දේ.නි. වසර වර්ෂයට සාමාන්‍යයෙන් 10% ඉක්මවූ ප්‍රමාණයකින් පහළ යයි.

05. ' නිමැවුම් පරතරය ' යනු කුමක් ද?

- ආර්ථිකයක සැබෑ නිමැවුම එහි විභව නිමැවුම අතර වෙනස නිමැවුම් පරතරය ලෙස හැඳින්වේ. නිමැවුම් පරතරය (+) , (-) ලෙස දෙආකාර විය හැක.

නිමැවුම් පරතරය = සැබෑ නිමැවුම - විභව නිමැවුම

- විභව නිමැවුමට වඩා සැබෑ නිමැවුම වැඩි නම් නිමැවුම් පරතරය (+) වියහැකි වන අතර එය ආර්ථිකයේ උද්ධමනකාරී තත්ත්වයට හේතුවේ
- විභව නිමැවුමට වඩා සැබෑ නිමැවුම අඩු නම් නිමැවුම් පරතරය (-) වියහැකි වන අතර එය ආර්ථිකයේ [illegible] තත්ත්වයට හේතුවේ

06.ආර්ථිකයක සමාහාර ඉල්ලුම කෙරෙහි බලපෑම් කිරීම සඳහා භාවිතා කෙරෙන ප්‍රතිපත්ති කවරේ ද?

01. මූල්‍ය ප්‍රතිපත්තිය - මුදල් සැපයුම සහ පොලී අනුපාතිකය වෙනස් කිරීමයි.
- ප්‍රසාරණාත්මක මූල්‍ය ප්‍රතිපත්තියකදී සමාහාර ඉල්ලුම වැඩි කිරීම සඳහා මුදල් සැපයුම වැඩි කිරීමත් පොලී අනුපාතිකය අඩු කිරීමත් සිදු කෙරේ.
- සංකෝචනාත්මක මූල්‍ය ප්‍රතිපත්තියකදී සමාහාර ඉල්ලුම අඩු කිරීම සඳහා මුදල් සැපයුම අඩු කිරීමත් පොලී අනුපාතිකය වැඩි කිරීමත් සිදු කෙරේ.

02. රාජ්‍ය මූල්‍ය ප්‍රතිපත්තිය - බදු සහ රාජ්‍ය වියදම් වෙනස් කිරීම යි.
- ප්‍රසාරණාත්මක රාජ්‍ය මූල්‍ය ප්‍රතිපත්තියකදී සමාහාර ඉල්ලුම වැඩි කිරීම සඳහා බදු අඩු කිරීමත් රාජ්‍ය වියදම් වැඩි කිරීමත් සිදු කෙරේ.

- සංකෝචනාත්මක රාජ්‍ය මූල්‍ය ප්‍රතිපත්තියකදී සමාහාර ඉල්ලුම අඩු කිරීම සඳහා බදු ප්‍රමාණය වැඩි කිරීම රජයේ වියදම් අඩු කිරීම සිදු කෙරේ.

07. සමාහාර ඉල්ලුම යන්නෙන් කුමක් අදහස් වේ දැයි පැහැදිලි කරන්න.

- යම් ආර්ථිකයක කුටුම්භ, ව්‍යාපාර, රජය සහ විදේශයන් විසින් ආර්ථිකයෙන් භා/සේ මිලදී ගැනීමට බලාපොරොත්තුවන වියදම් සමාහාර ඉල්ලුමයි.
- සමාහාර ඉල්ලුමේ සංරචක හතරකි.
  01. පරිභෝජන වියදම (C)
  02. ආයෝජන වියදම (I)
  03. රාජ්‍ය වියදම (G)
  04. ශුද්ධ අපනයන (Nx)

සමාහාර ඉල්ලුම් ශ්‍රිතය → $E = C + I + G + Nx$

08. සමාහාර සැපයුම යන්නෙන් කුමක් අදහස් වේ දැයි පැහැදිලි කරන්න.

- යම් ආර්ථිකයක නිෂ්පාදකයන් සමාහාර මිලක විසින් සැපයීමට බලාපොරොත්තු කරන භා/සේ වටිනාකම සමාහාර සැපයුම වේ.
- සාමාන්‍ය මිල මට්ටමක නිෂ්පාදකයන් නිපදවන මුළු මිය කුටුම්භ සැපයුම් කරගන්නා

අසේල වැලිකන්නා

- නිෂ්පාදනය එය ආදායම ආකාර 04 කට වර්ගීකරණය කරයි.

01. පරිභෝජනය (C)

02. ඉතුරුම් (S)

03. බදු (T)

04. ආනයන (M)

ආදායම් වර්ගීකරණ ශ්‍රිතය → $y = C + S + T + M$

09.'ආදායමේ චක්‍රීය ප්‍රවාහය' (ආදායමේ වෘත්තාකාර ප්‍රවාහය) යනු කුමක්දැයි රූප සටහනක් ඇසුරින් පහදන්න.

- ආර්ථිකයක කාලයක් තුළ ආර්ථික ක්‍රියාවලියේ පවතින ආදායම් හා වියදම් ප්‍රවාහ කුටුම්භ හා ව්‍යාපාර අංශ අතර චක්‍රීයව ගලායාමේ ක්‍රියාවලිය ආදායමේ චක්‍රීය ප්‍රවාහය වේ.

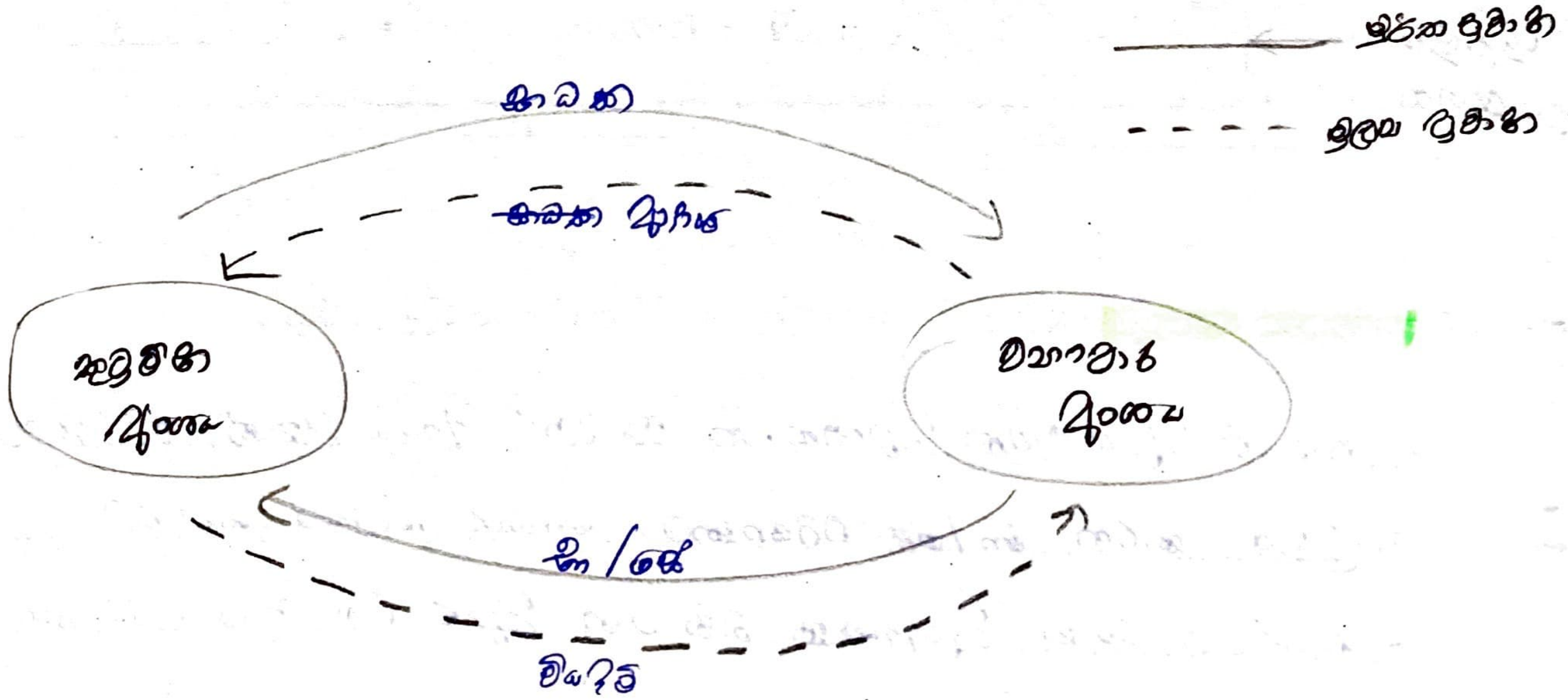

10. "ගිලිහීම්" සහ "ඇතුලුවීම්" යන සංකල්ප අතර වෙනස පහදන්න.

ගිලිහීම් / කාන්දුවීම් (W)	ඇතුළුවීම් / එන්නත් (J)
- ආදායම් චක්‍රීය ප්‍රවාහයෙන් ඉවතට කරනු ලබන මුදල් ප්‍රමාණ ගිලිහීම් වේ	- ආදායම් චක්‍රීය ප්‍රවාහයට එකතු කරනු ලබන මුදල් ප්‍රමාණ ඇතුළුවීම් වේ
- ගිලිහීම් මගින් සමාහාර ඉල්ලුම ~~අඩුවී~~ පහළ යාමක් සිදු වී ද.දේ.නි. මට්ටම අඩු වේ	- ඇතුළුවීම් මගින් සමාහාර ඉල්ලුම ඉහළ යාමක් වී ද.දේ.නි. මට්ටම ඉහළ යයි
- විවෘත ආර්ථිකයක ගිලිහීම් 3ක	- විවෘත ආර්ථිකයක ඇතුළුවීම් 3ක
01. ඉතුරුම් (S)	01. ආයෝජන (I)
02. බදු (T)	02. රාජ්‍ය වියදම් (G)
03. ආනයන (M)	03. අපනයන (X)
$W = S + T + M$	$J = I + G + X$

11. පහත දැක්වෙන තොරතුරු සම්පූර්ණ කරන්න.

	සරල ආර්ථිකය	සංවෘත ආර්ථිකය	විවෘත ආර්ථිකය
ආර්ථික කාරක	01. කුටුම්භ 02. ව්‍යාපාර	01. කුටුම්භ 02. ව්‍යාපාර 03. රජය	01. කුටුම්භ 02. ව්‍යාපාර 03. රජය 04. විදෙස්
සමාහාර ඉල්ලුම	$E = C + I$	$E = C + I + G$	$E = C + I + G + Nx$
ආදායම් පරිහරනය	$Y = C + S$	$Y = C + S + T$	$Y = C + S + T + M$
ගිලිහීම්	$W = S$	$W = S + T$	$W = S + T + M$
ඇතුලුවීම්	$J = I$	$J = I + G$	$J = I + G + X$

අසේල මල්ලිකාරච්චි

---- 2024 Revision ----

12. 'සාර්ව ආර්ථික සමතුලිතය' යන්නෙන් කුමක් අදහස් වේ ද? ආර්ථිකයක සමතුලිත ආදායම් මට්ටම කෙසේ තීරණය වේ ද? [illegible]

([illegible])

— සැලසුම් ද්විඅංශික ආර්ථිකයක පවතින සමස්ත ඉ. හා ස. සැ.

සමානවීම මගින් සාර්ව ආර්ථික සමතුලිතය ඇති වේ.

සමතුලිත ආදායම් මට්ටම තීරණය වන ආකාරය ක්‍රමවේද තුනක්

යටතේ දක්විය හැක.

අ. ආදායම් වියදම් ප්‍රවේශය

— මුළු නිෂ්පාදනයට වඩා සමස්ත ඉල්ලුම විශාල නම් (Y < E)

පවතින නිමැවුම ප්‍රසාරණය කෙරෙනුයේ එබැවින් එය සමතුලිත ආදායම් මට්ටමට

— මුළු නිෂ්පාදනයට වඩා සමස්ත ඉල්ලුම අඩු නම් (Y > E)

පවතින නිමැවුම සංකෝචනය කෙරෙනුයේ එබැවින් එය සමතුලිත ආදායම් මට්ටමට

— මුළු නිෂ්පාදනය හා සමස්ත ඉල්ලුම සමාන නම් (Y = E)

පවතින නිමැවුම ප්‍රසාරණය වීමක හෝ සංකෝචනය වීමක් සිදු නොවේ.

එබැවින් එය සමතුලිත ආදායම් මට්ටමකි.

ආ. කාන්දුව ඇතුළුවීම් ප්‍රවේශය

— ~~[illegible]~~ කාන්දුවීම් වලට වඩා ඇතුළුවීම් විශාල නම් (W < J) පවතින

නිමැවුම ප්‍රසාරණය කෙරෙනු ඇත එබැවින් එය සමතුලිත ආදායම් මට්ටමකට

— කාන්දුවීම් වලට වඩා ඇතුළුවීම් අඩු නම් (W > J) පවතින

නිමැවුම සංකෝචනය කෙරෙනුයේ එබැවින් එය සමතුලිත ආදායම් මට්ටමට

— කාන්දුවීම් හා ඇතුළුවීම් සමාන නම් (W = J) පවතින නිමැවුම

ප්‍රසාරණය වීමක හෝ සංකෝචනය වීමක් සිදු නොවේ. එබැවින් එය

සමතුලිත ආදායම් මට්ටමකි.

ආර්ථිකය	සමතුලිත කොන්දේසි	
	Y = E කොන්දේසිය	W = J කොන්දේසිය
සරල ආර්ථිකය	$Y = C + I$	$S = I$
සංවෘත ආර්ථිකය	$Y = C + I + G$	$S + T = I + G$
විවෘත ආර්ථිකය	$Y = C + I + G + Nx$	$S + T + M = I + G + X$

13. සමතුලිත නිමවුම් රේඛාව යනු කුමක් ද? එහි වැදගත්කම සැකෙවින් දක්වන්න.

- සාර්ව ආර්ථික සමතුලිතයේ මූලික කොන්දේසිය වන Y = E කොන්දේසිය ප්‍රස්තාර ගත කිරීමෙන් ලැබෙන රේඛාව සමතුලිත නිමවුම් රේඛාව හෙවත් Y = E රේඛාව හෙවත් 45° රේඛාව වේ.

- සැලසුම් වියදම් රේඛාව (E) මෙම රේඛාව ඡේදනය වන ස්ථානයේදී සමතුලිත නිමවුම තීරණය වේ.

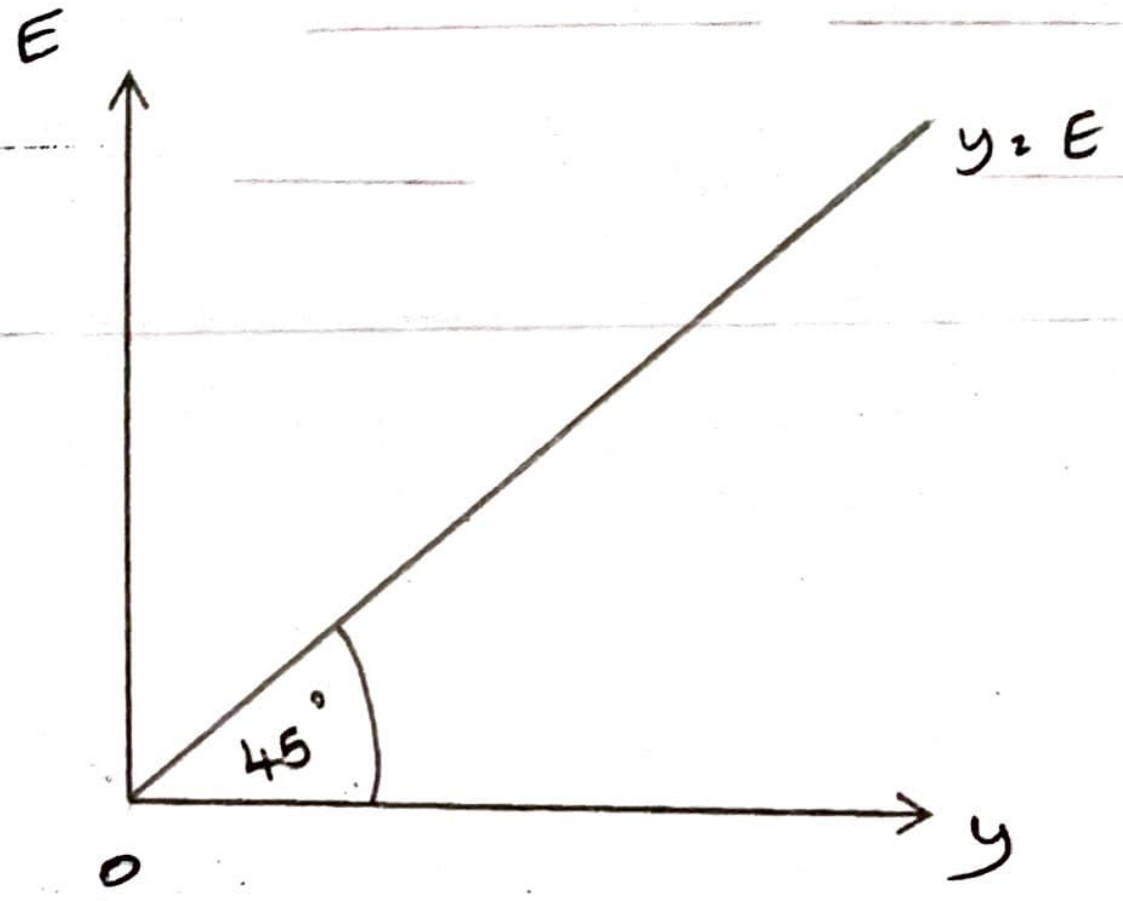

14. සරල ආර්ථිකයක සමතුලිත කොන්දේසි දක්වන්න.

- සරල ආර්ථිකයක් යනු කුටුම්බ සහ ව්‍යාපාර පමණක් සහිත ආර්ථිකයකි.

සරල ආර්ථිකයක සමාහාර ඉල්ලුම .... $E = C + I$

සරල ආර්ථිකයක ආදායම් පරිහරණය .... $Y = C + S$

සරල ආර්ථිකයක ගිලිහීම්/කාන්දුවීම් .... $W = S$

සරල ආර්ථිකයක ඇතුළුවීම්/විදීම් .... $J = I$

- සරල ආර්ථිකයක සමතුලිත ආදායම් මට්ටම පහත දැක්වෙන පරිදි තීරණය වේ.

.... (01) $Y = C + I$ ($Y = E$ ...) ....

.... (02) $S = I$ ($W = J$ ...) ....

15. සරල ආර්ථිකයක 'පරිභෝජන ශ්‍රිතය' පැහැදිලි කරන්න.

- පරිභෝජන ශ්‍රිතයෙන් පෙන්නුම් කරන්නේ ආදායම සහ පරිභෝජන වියදම අතර පවතින සම්බන්ධයයි.

- ආදායම ශූන්‍ය වන විට පරිභෝජන වියදමක් පැවතිය හැකි අතර එය ස්වාධීන පරිභෝජන වියදම ලෙස හැඳින්වේ. එය **a** ලෙස සංකේතවත් කරයි. ස්වාධීන පරිභෝජන වියදම ඉක්මවා දරණ පරිභෝජන වියදම (by) පෙළැඹුණු පරිභෝජන වියදම් ලෙස හඳුන්වන අතර එය ආදායම වැඩි වීමේ ප්‍රතිඵලයක් ලෙස හටගන්නා පරිභෝජන වියදමකි.

- එතැන් පටන් ආදායම ක්‍රමයෙන් වැඩිවන විට පරිභෝජන වියදම ද ක්‍රමයෙන් වැඩි වන අතර වෙනස්වන ආදායමෙන් පරිභෝජනය සඳහා කොතරම් වෙන් කරයි ද යන්න ආන්තික පරිභෝජන නැමියාවෙන් පෙන්නුම් කරයි. එය **b** ලෙස සංකේතවත් කරයි.

- ඒ අනුව සරල ආර්ථිකයක පරිභෝජන ශ්‍රිතය පහත පරිදි දැක්විය හැකිය.

$$C = a + by$$

$y = E$

$y = C + I$

$y = C + S$

16. සරල ආර්ථිකයක ' ඉතුරුම් ශ්‍රිතය' පැහැදිලි කරන්න.

- ඉතුරුම් ශ්‍රිතයෙන් පෙන්නුම් කරන්නේ ආදායම සහ ඉතුරුම් අතර පවතින සම්බන්ධයයි. සරල ආර්ථිකයක ආදායම උපයෝජනය කරන්නේ පරිභෝජනය සහ ඉතුරුම් වෙනුවෙන් පමණක් බැවින් ආදායමෙන් පරිභෝජනය අඩු කිරීමෙන් ඉතුරුම් සොයාගත හැකිය.

$$S = y - C$$
$$S = y - (a + by)$$
$$S = y - a - by$$
$$S = -a + (1-b)y$$

- ආදායම ශූන්‍ය වන විට ඉතුරුම් සෘණ වන අතර එය ස්වාධීන පරිභෝජන වියදමේ අගයට සමාන වේ. එය අපසේෂණය ලෙස හැඳින්වෙන අතර -a වලින් පෙන්නුම් කරයි.
- ආදායම ක්‍රමයෙන් වැඩිවන විට ඉතුරුම් ද ක්‍රමයෙන් වැඩි වන අතර වෙනස්වන ආදායමෙන් ඉතුරුම් සඳහා කොතරම් වෙන් කරයි ද යන්න ආන්තික ඉතුරුම් නැඹියාවෙන් පෙන්නුම් කරයි. එය (1-b) වලින් නිරූපණය කරයි. ඒ අනුව සරල ආර්ථිකයක ඉතුරුම් ශ්‍රිතය පහත පරිදි දැක්විය හැකිය.

$$S = -a + (1-b)y$$

පරිභෝජන ශ්‍රිතය

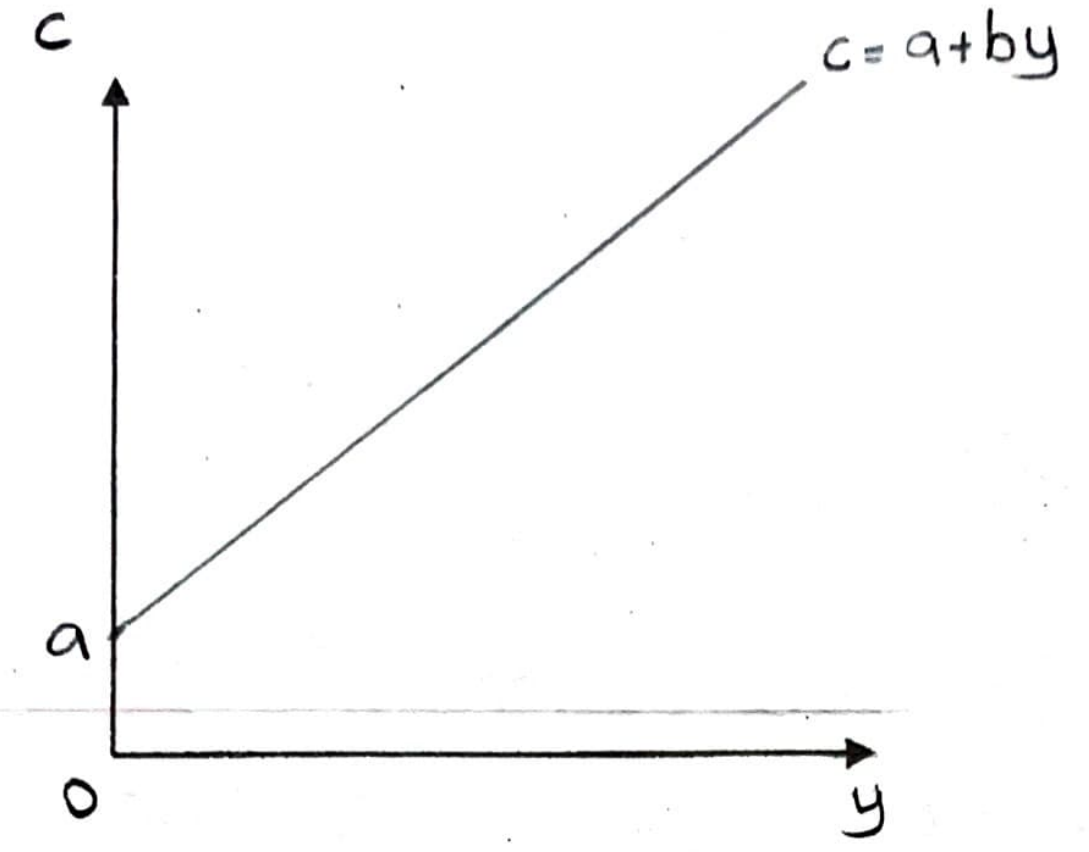

ඉතුරුම් ශ්‍රිතය

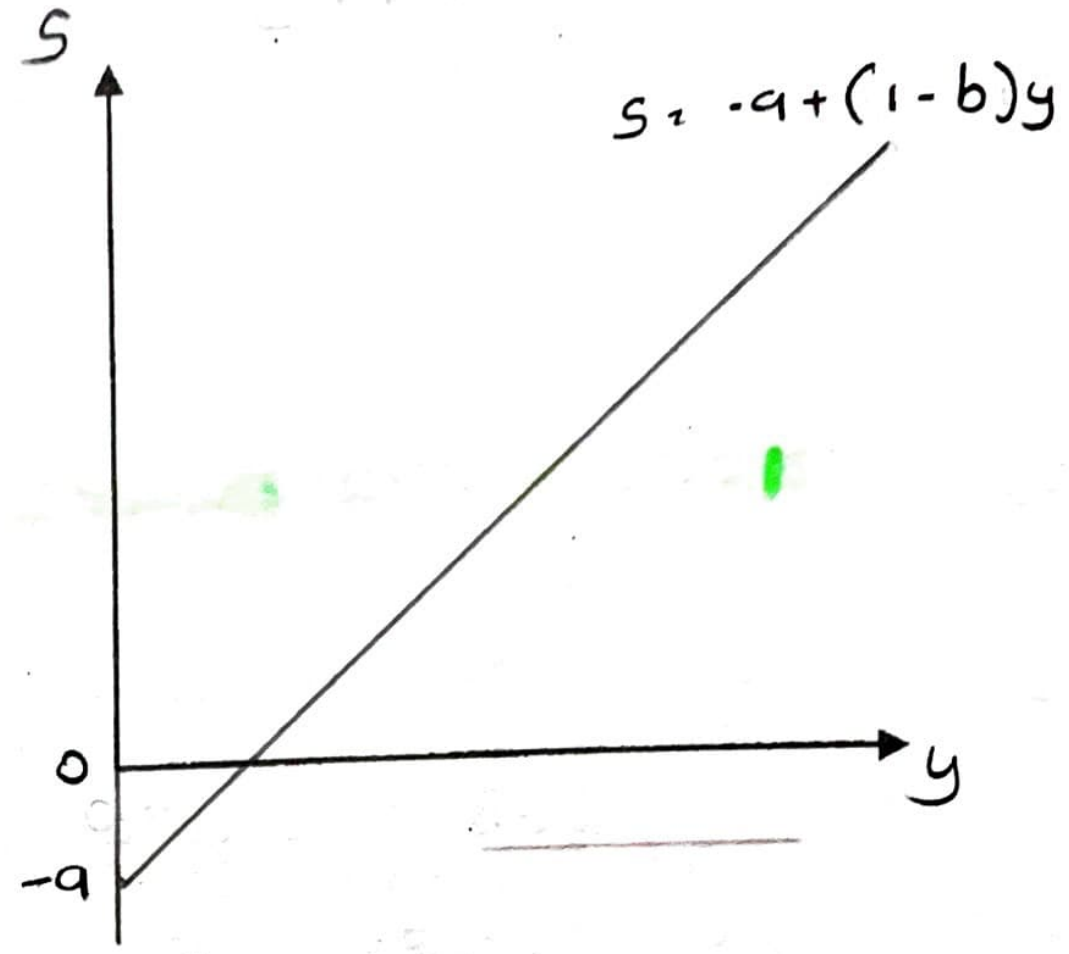

- [illegible]
- [illegible]

17. සරල ආර්ථිකයක ක්‍රියාකාරීත්වයට රජය මැදිහත් වීම හටගන්නා වෙනස්කම් මොනවා ද?

- රජය විසින් කුටුම්බ වලයෙන් ආදායමෙන් බදු අය කිරීම බදු (T) ආදායම් ප්‍රවාහයෙන් කාන්දුවකි.
- රජය විසින් ව්‍යාපාර ආයතනවලින් භා/සේ මිලදී ගැනීමෙන් රාජ්‍ය වියදම ඇතිවීම (G) රාජ්‍ය වියදම් යනු ආදායම් ප්‍රවාහයට ඇතුළු වීමකි.
- රජය විසින් කුටුම්බ අංශයට ගෙවීම් සිදු කිරීම (Tr/R). ගෙවීම යනු ආදායම් ප්‍රවාහයට ඇතුළු වීමකි. ([illegible])

18. සංවෘත ආර්ථිකයක සමතුලිත ආදායම් මට්ටම නිර්ණය වනු ලබන්නේ කෙසේ ද?

- සංවෘත ආර්ථිකයක් සම්බන්ධ මූලික තොරතුරු පහත දැක්වේ.

සංවෘත ආර්ථිකයක සමාහාර ඉල්ලුම $E = C + I + G$

සංවෘත ආර්ථිකයක ආදායම් පරිහරණය $Y = C + S + T$

සංවෘත ආර්ථිකයක ගිලිහීම්/කාන්දුවීම් $W = S + T$

- සංක්‍රාම පවතින ආර්ථිකයක ගිලිහීම් - $W = S + (T - T_r)$ ← ශුද්ධ බදු

සංවෘත ආර්ථිකයක ඇතුළුවීම්/විදීම් $J = I + G$

- සංවෘත ආර්ථිකයක සමතුලිත ආදායම් මට්ටම පහත දැක්වෙන පරිදි තීරණය වේ.

$Y = C + I + G$ ($Y = E$ තත්වයේදී ...)

$S + T = I + G$ ($W = J$ තත්වයේදී ...)

19. ආර්ථිකයක වැය කළ හැකි ආදායම ගණනය කරන්නේ කෙසේ ද?

- සරල ආර්ථිකයක රජයේ ක්‍රියාකාරීත්වයක් නොමැති බැවින් බදු පැනවීමක් හෝ සංක්‍රාම ලබාදීමක් සිදුනොවේ. එබැවින් කුටුම්බ ලබන ආදායම හා වැය කළ හැකි ආදායම සමාන වේ.

සරල ආර්ථිකයක වැය කළ හැකි ආදායම (Yd) = Y

- එහෙත් සංවෘත ආර්ථිකයක බදු නිසා වැය කළ හැකි ආදායම පහළ යන අතර සංක්‍රාම නිසා වැය කළ හැකි ආදායම ඉහළ යයි.

සංවෘත ආර්ථිකයක වැය කළ හැකි ආදායම (Yd) = $Y + T_r - T$

- සංක්‍රාම නොමැති සංවෘත ආර්ථිකයක වැය කළ හැකි ආදායම.

Yd = $y - T$

- සංවෘත ආර්ථිකයක වැය කළ හැකි ආදායම පරිභෝජනය සහ ඉතුරුම් වෙනුවෙන් යොදවයි.

Yd = $C + S$

- ඒ අනුව සංවෘත ආර්ථිකයක පරිභෝජන ශ්‍රිතය සහ ඉතුරුම් ශ්‍රිතය පහත දැක්වෙන පරිදි ප්‍රකාශ කළ හැකිය.

පරිභෝජන ශ්‍රිතය $C = a + bYd$

ඉතුරුම් ශ්‍රිතය $S = -a + (1-b)Yd$

20. විවෘත ආර්ථිකයක සමතුලිත ආදායම් මට්ටම කෙසේ තීරණය වේ ද?

- විවෘත ආර්ථිකයක කුටුම්බ, ව්‍යාපාර, රාජ්‍ය සහ විදේශ යන සියලු ආර්ථික කාරක දැකිය හැකිය.

විවෘත ආර්ථිකයක සමාහාර ඉල්ලුම $E = C + I + G + Nx$

විවෘත ආර්ථිකයක ආදායම් පරිහරණය $Y = C + S + T + M$

විවෘත ආර්ථිකයක ගිලිහීම්/කාන්දුවීම් $W = S + T + M$

විවෘත ආර්ථිකයක ඇතුළුවීම්/විදීම් $J = I + G + X$

- විවෘත ආර්ථිකයක සමතුලිත ආදායම් මට්ටම පහත දැක්වෙන පරිදි තීරණය වේ.

$Y = C + I + G + Nx$ ($Y = E$ ... ක්‍රමය)

$S + T + M = I + G + X$ ($W = J$ ... ක්‍රමය)

අසේල මල්ලිකාරච්චි

21. පහත සඳහන් දෑ රූප සටහන් ඇසුරින් පෙන්වන්න.

1. **සාර්ව ආර්ථිකයක සමතුලිතය**

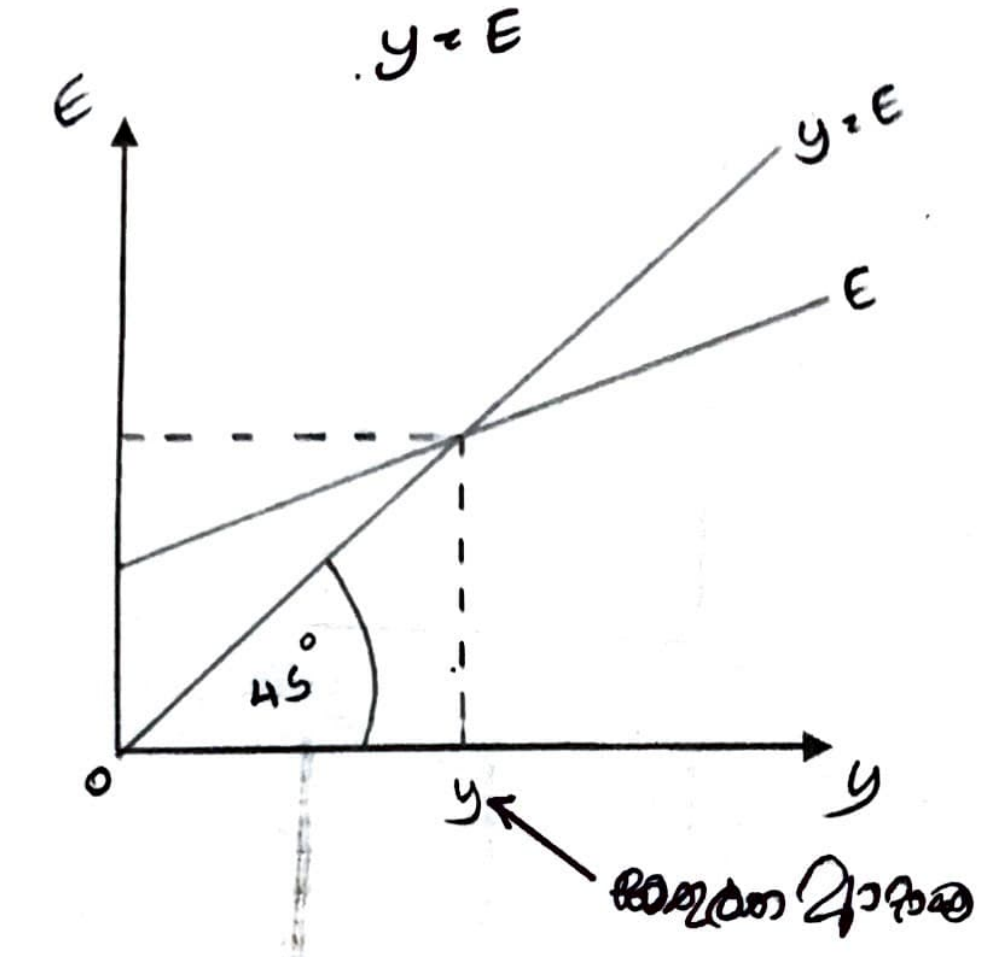

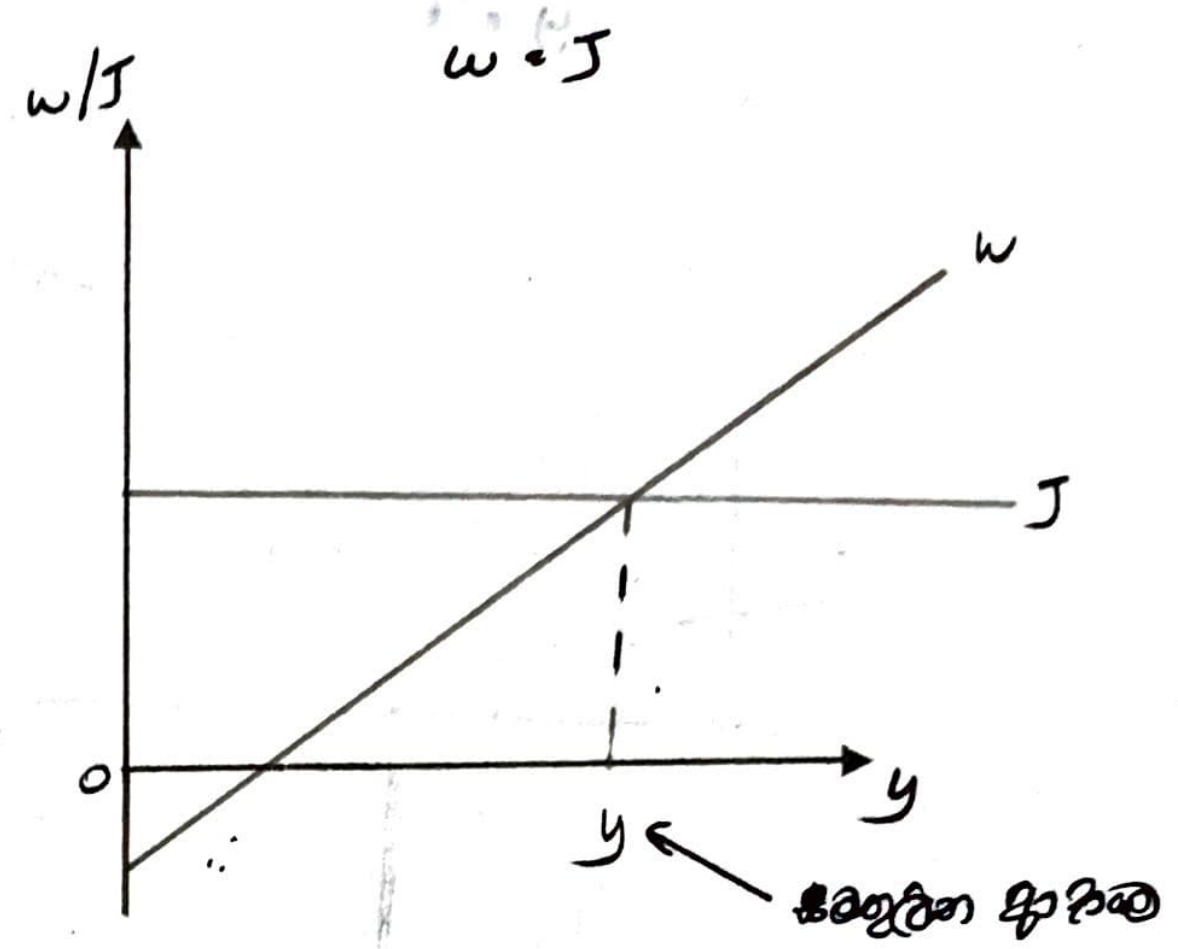

2. **සරල ආර්ථිකයක සමතුලිතය**

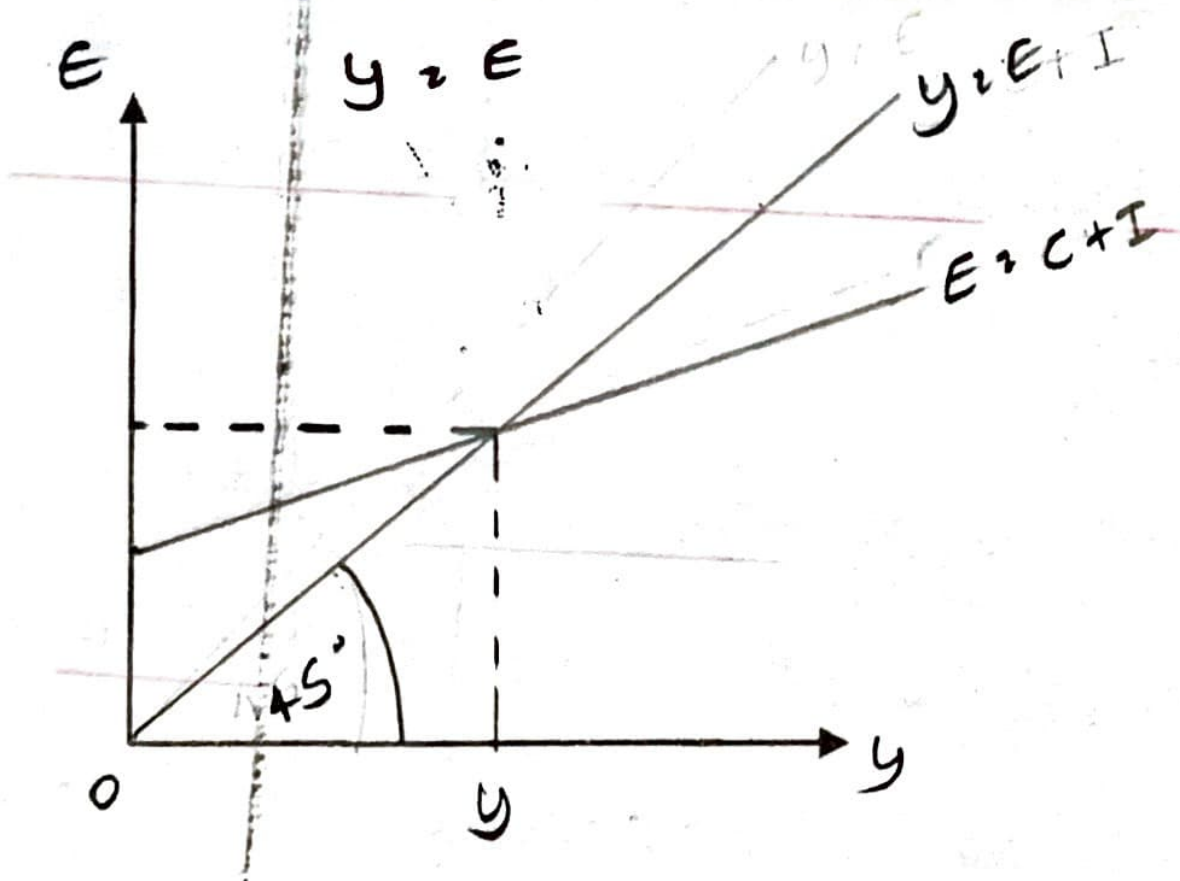

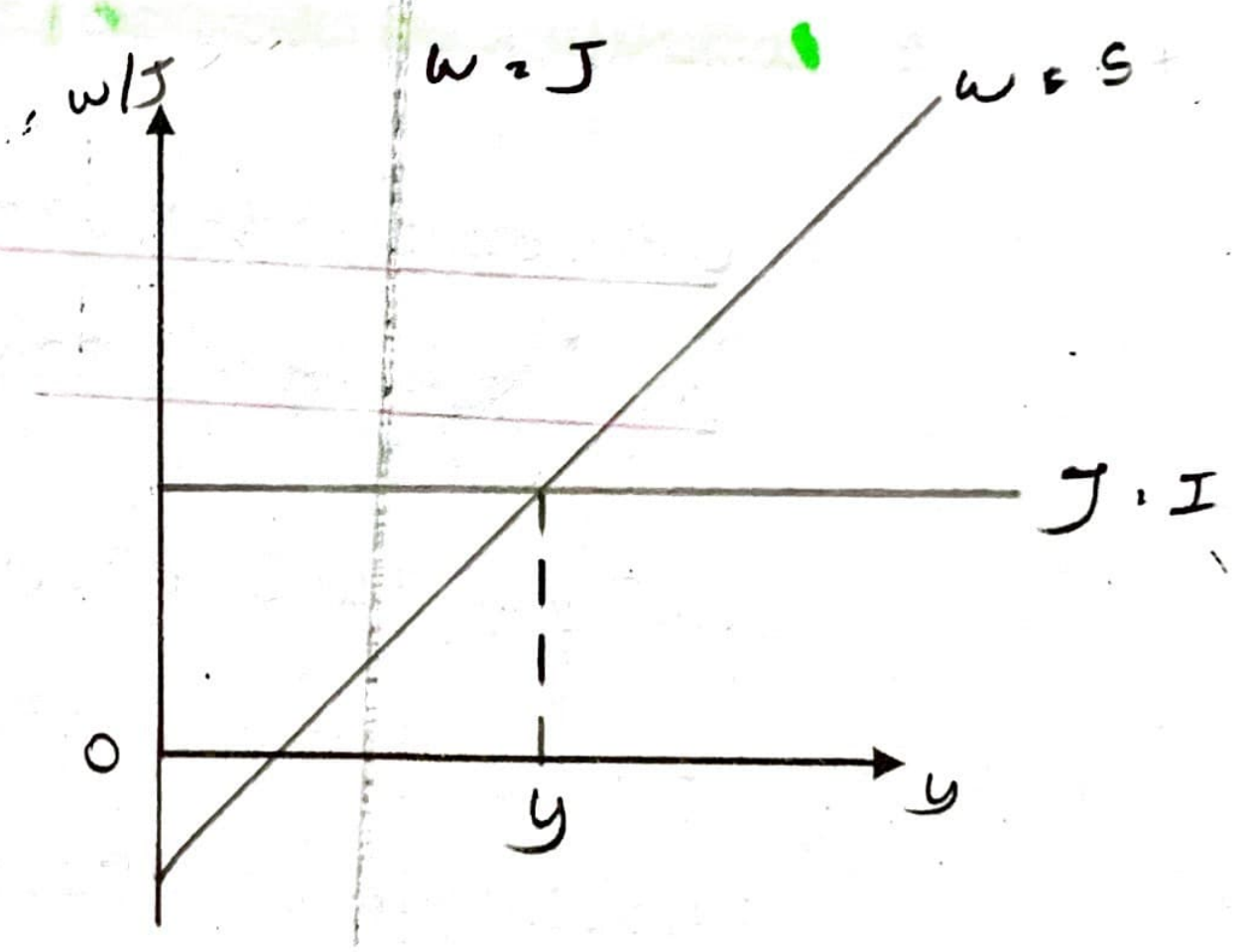

3. **සංවෘත ආර්ථිකයක සමතුලිතය**

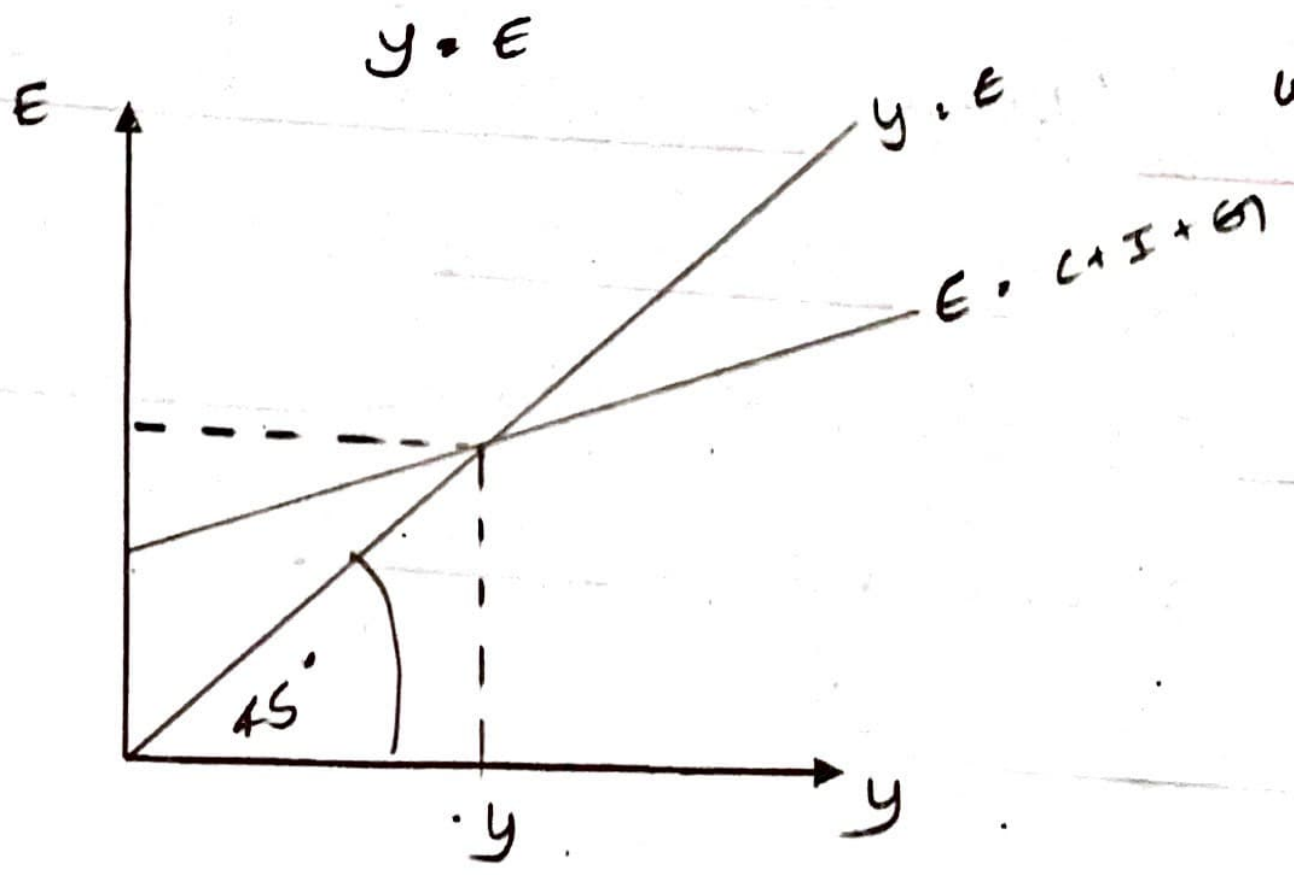

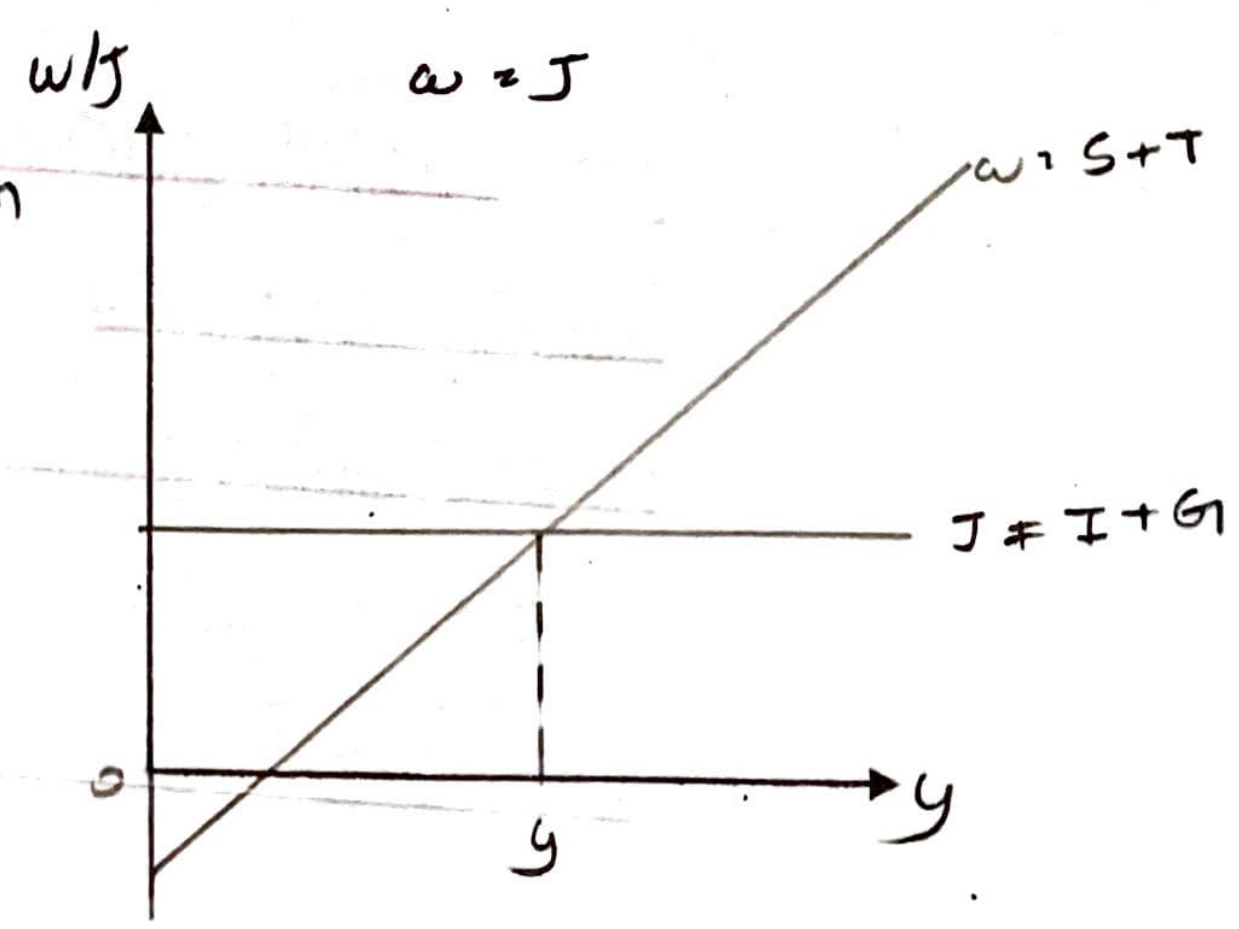

4. විවෘත ආර්ථිකයක සමතුලිතය

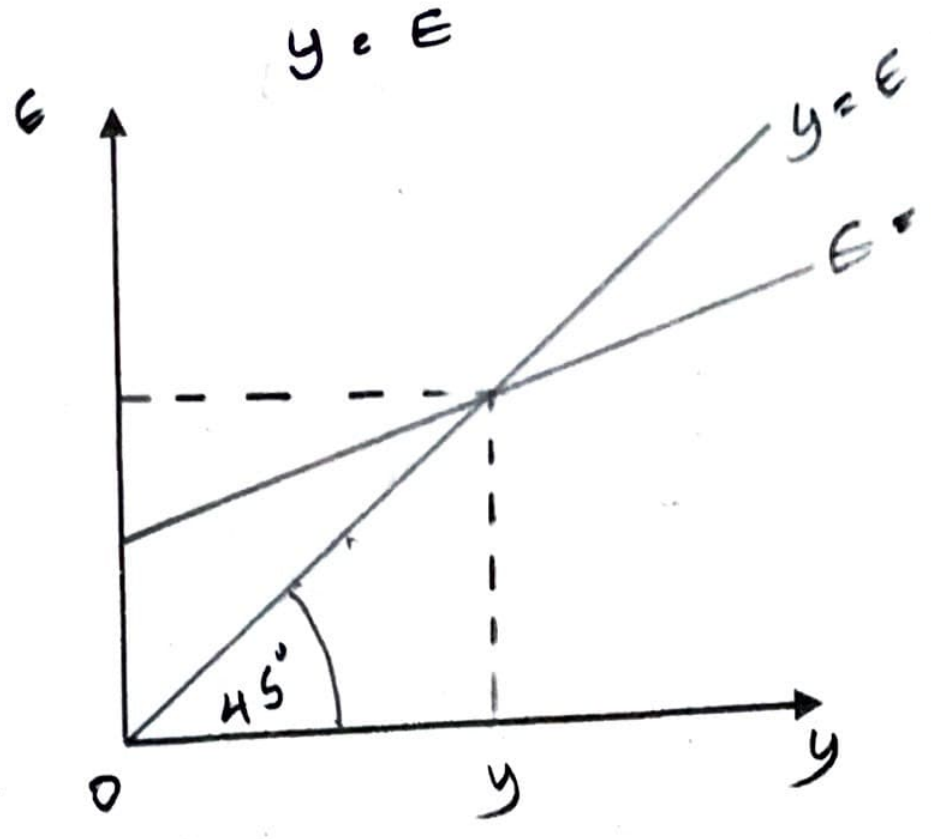

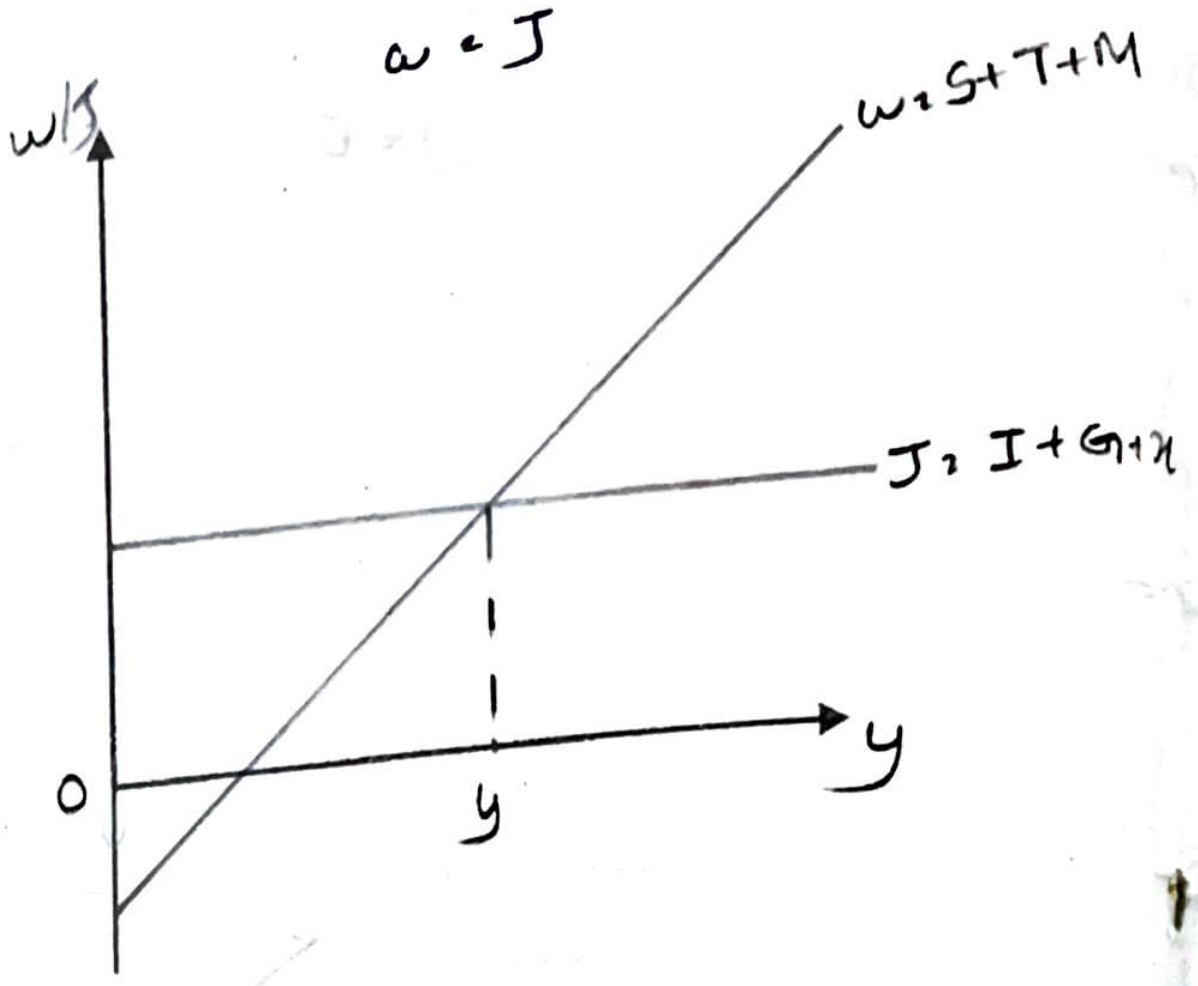

22. ජාතික ආදායමේ සමතුලිතය සෑම අවස්ථාවකම ආර්ථිකයට හිතකර වේ ද?

- ජාතික ආදායම සමතුලිත වනුයේ එය ප්‍රසාරණය වීමට හෝ සංකෝචනය වීමට හෝ නැඹුරුවක් නොපවතින විට දීය.

- ජාතික ආදායමේ සමතුලිතතාව සඳහා අවශ්‍ය වන්නේ මූර්ත නිෂ්පාදිතයේ වටිනාකමට සමාන වූ සමහාර ඉල්ලුමක් හට ගැනීම ය. එනම් Y = E වීමය. නැතහොත් සමාහාර වියදමට සිදුවන ගිලිහීම් හා ඇතුලුවීම් අතර තුළනයක් හට ගැනීමය. එනම් W = J වීමය.

- මෙම කොන්දේසි ඉටුවන විට ආර්ථිකය කවර ආදායම් මට්ටමක් යටතේ වුව ද සමතුලිත විය හැකිය. එය එක්කෝ උද්ධමනය සහිතව විය හැකිය. නැතහොත් සේවා වියුක්තිය සහිතව විය හැකිය. එසේත් නැතහොත් ඒ දෙකම නොමැතිව ආර්ථිකය සමතුලිත විය හැකිය. එබැවින් එය සෑම විටකම ආර්ථිකයට හිතකර තත්වයක් යැයි පැවසිය නොහැක.

- පූර්ණ සේවා නියුක්ති නිමැවුම Yf නම්, පහත සඳහන් රූප සටහන් වලින් මෙම තත්ත්වයන් පෙන්නුම් කෙරේ.

1. උද්ධමන තත්වයක් යටතේ ජාතික ආර්ථිකය සමතුලිත වන අවස්ථාවක්
....
....
....
....

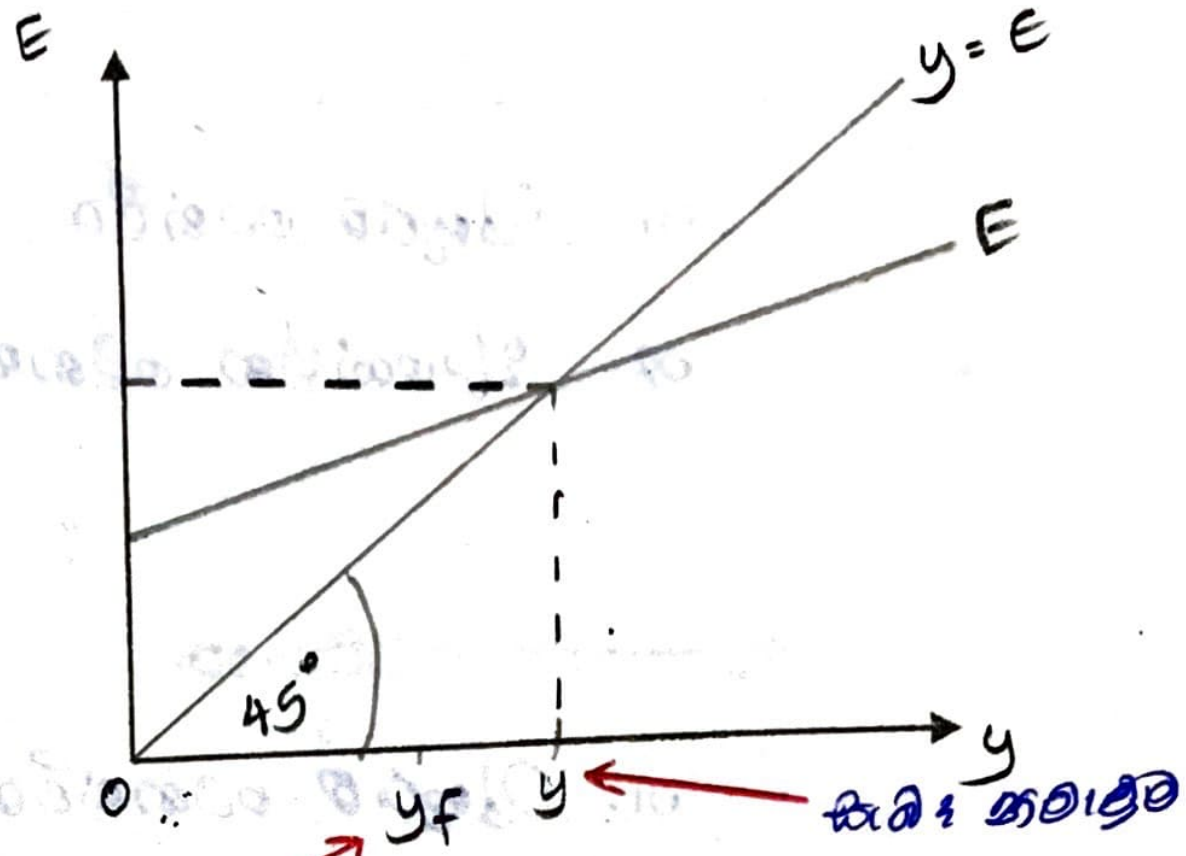

2. සේවා වියුක්ති තත්වයක් යටතේ ජාතික ආර්ථිකය සමතුලිත වන අවස්ථාවක්
....
....
....
....

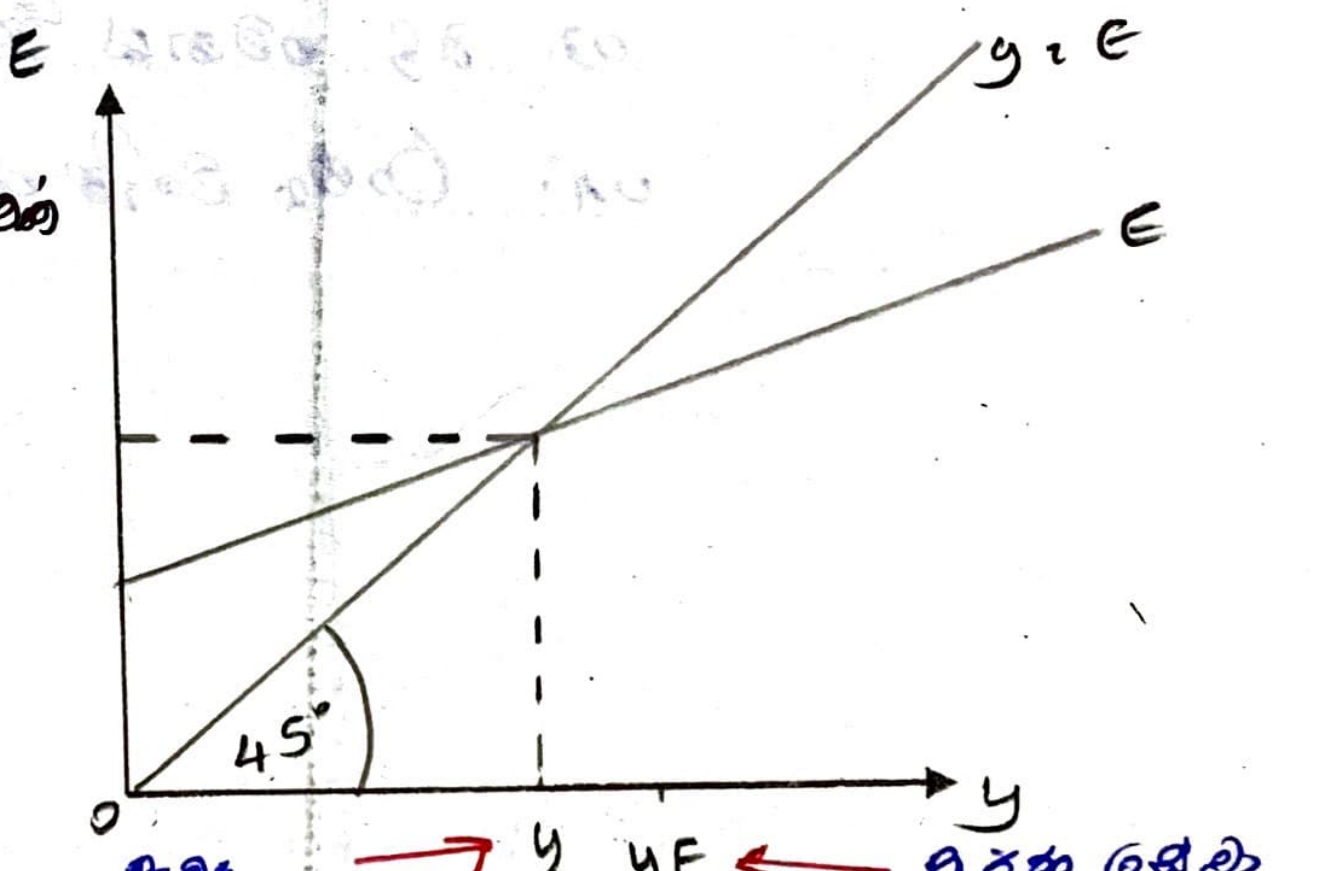

3. සේවා වියුක්තියක් හෝ උද්ධමනයක් නොමැති තත්වයක් යටතේ ජාතික ආර්ථිකය සමතුලිත වන අවස්ථාවක්.
....
....
....

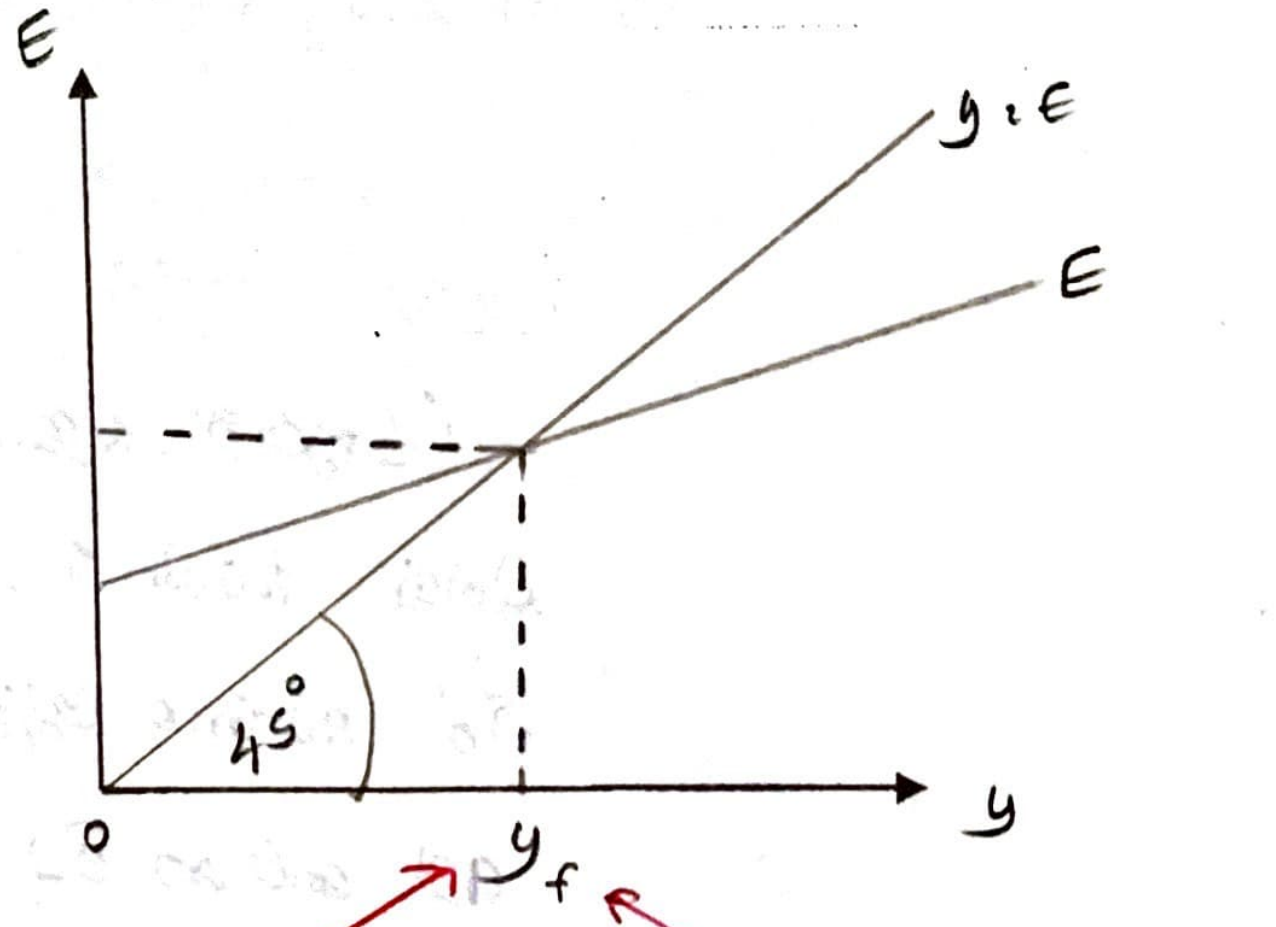

23.පහත දැක්වෙන එක් එක් ආර්ථිකයන්හි සමතුලිතය වෙනස්වීම කෙරෙහි බලපාන සාධක සැකෙවින් දක්වන්න.

1. සරල ආර්ථිකයක

01. ඉතුරුම වෙනස්වීම
02. ආයෝජන වෙනස්වීම

2. සංවෘත ආර්ථිකයක

01. ඉතුරුම වෙනස්වීම
02. ආයෝජන වෙනස්වීම
03. බදු වෙනස් වීම
04. රාජ්‍ය වියදම් වෙනස්වීම

3. විවෘත ආර්ථිකයක

01. ඉතුරුම වෙනස් වීම
02. ආයෝජන වෙනස්වීම
03. බදු වෙනස් වීම
04. රාජ්‍ය වියදම් වෙනස්වීම
05. අපනයන වෙනස් වීම
06. ආනයන වෙනස් වීම

[illegible]

24.පහත දැක්වෙන එක් එක් සිදුවීම් ආර්ථිකයක සමතුලිතය වෙනස්වීම කෙරෙහි බලපාන සාධක සැකෙවින් පහදන්න.

1. ඉතුරුම් වෙනස්වීම

- ඉතුරුම් යනු [illegible]

2. ආයෝජන වෙනස්වීම

- ආයෝජන යනු ආර්ථිකයේ චක්‍රීය ප්‍රවාහයට එකතුවීමකි. එකතුවීම් මගින් සමාහාර ඉල්ලුම ශක්තිමත් වේ. එමනිසා ආයෝජන වැඩි කරන විට සමාහාර ඉල්ලුම වැඩි වී ජාතික ආදායම ඉහළ යයි. එසේ ආයෝජන අඩු කරන විට සමාහාර ඉල්ලුම අඩු වී ජාතික ආදායම පහළ යයි.

3. බදු වෙනස්වීම

- බදු යනු ආර්ථිකයේ චක්‍රීය ප්‍රවාහයෙන් කාන්දුවීමකි. කාන්දුවීම් මගින් සමාහාර ඉල්ලුම දුර්වල වේ. එම නිසා බදු වැඩි කරන විට සමාහාර ඉල්ලුම අඩු වී ජාතික ආදායම පහළ යයි. එසේ බදු අඩු කරන විට සමාහාර ඉල්ලුම ~~අඩු~~ වැඩි වී ජාතික ආදායම වැඩි වේ.

4. රාජ්‍ය වියදම් වෙනස්වීම

- රාජ්‍ය වියදම් යනු ආර්ථිකයේ චක්‍රීය ප්‍රවාහයට එකතුවීමකි. එකතුවීම් මගින් සමාහාර ඉල්ලුම ශක්තිමත් වේ. එමනිසා රාජ්‍ය වියදම් වැඩි කරන විට සමාහාර ඉල්ලුම වැඩි වී ජාතික ආදායම ඉහළ යයි. එසේ රාජ්‍ය වියදම් අඩු කරන විට සමාහාර ඉල්ලුම අඩු වී ජාතික ආදායම පහළ යයි.

5. අපනයන වෙනස්වීම

- අපනයන යනු ආර්ථිකයේ චක්‍රීය ප්‍රවාහයට එකතුවීමකි. එකතුවීම් මගින් සමාහාර ඉල්ලුම ශක්තිමත් වේ. එම නිසා

අසේල වල්ලියකාරච්චි

ආනයන අඩු කරන විට සමාහාර ඉල්ලුම වැඩි වී ජාතික
ආදායම ඉහළ යයි. ආනයන වැඩි කරන විට සමාහාර
ඉල්ලුම අඩු වී ජාතික ආදායම පහළ යයි.

6. ආනයන වෙනස්වීම

- ආනයන යනු ආදායම් ප්‍රවාහයෙන් ඉවත්වීමක්
කාන්දුවක් වන බැවින් සමාහාර ඉල්ලුම අඩු වේ. එම නිසා ආනයන
වැඩි කරන විට සමාහාර ඉල්ලුම අඩු වී ජාතික ආදායම පහළ යයි.
ආනයන අඩු කරන විට සමාහාර ඉල්ලුම වැඩි වී ජාතික
ආදායම ඉහළ යයි.

සමස්ත ආර්ථිකය $a+I+G+NX$
ස්වායත්ත වියදම් $a+I+G+X$

25. ස්වායත්ත වියදම් සහ පරායත්ත වියදම් අතර වෙනස පහදන්න.

- සමාහාර වියදම් සංරචක අතර ආදායමත් සමග වෙනස් නොවන
වියදම් ස්වායත්ත වියදම් වේ.
නිදසුන් : ස්වාධීන පරිභෝජනය, ආයෝජනය, රාජ්‍ය වියදම, අපනයන
(a, I, G, X)
- සමාහාර වියදම් සංරචක අතර ආදායමත් සමග වෙනස්
වන වියදම් පරායත්ත වියදම් වේ.
නිදසුන් : ප්‍රේරිත පරිභෝජනය (bY)

අසේල මල්ලිකාරච්චි

26. ආර්ථිකයක ගුණක ක්‍රියාවලිය සැකෙවින් පැහැදිලි කරන්න.

- ආර්ථිකයේ ස්වායත්ත වියදමක් වෙනස්වනවා මෙන් කිහිප ගුණයකින් ජාතික ආදායම වෙනස් වන බව ගුණක ක්‍රියාවලියෙන් පෙන්නුම් කෙරේ.

- ගුණක ක්‍රියාවලිය තුළ, සමස්ත වියදම ප්‍රාථමික හා ද්විතියික යනුවෙන් ආකාර දෙකකට වෙනස්වීමකට භාජනය වේ.

i. ප්‍රාථමික වෙනස්වීම

ii. ද්විතියික වෙනස්වීම

27. කල්පිත සරල ආර්ථිකයක ආන්තික පරිභෝජන නැඹියාවේ අගය **0.8** කි. රුපියල් බිලියන **100** න් ආයෝජන වියදම් වැඩිවීමක් නිසා ප්‍රථම වට හතර තුල හටගන්නා ගුණක ප්‍රතිඵල ගණනය කරන්න.

① වටය ආයෝජන වැඩි වීම (ΔI) = 100

∴ සමතුලිත ජාතික ආදායම වැඩි වීම (ΔY) = 100

② වටය පරිභෝජන වැඩි වීම (ΔC) = bY = 0.8 × 100 = 80

∴ සමතුලිත ජාතික ආදායම වැඩි වීම (ΔY) = 80

③ වටය පරිභෝජන වැඩි වීම (ΔC) = bY = 0.8 × 80 = 64

∴ සමතුලිත ජාතික ආදායම වැඩි වීම (ΔY) = 64

④ වටය පරිභෝජන වැඩි වීම (ΔC) = bY = 0.8 × 64 = 51.2

∴ සමතුලිත ජාතික ආදායම වැඩි වීම (ΔY) = 51.2

28. ඉහත ආර්ථිකයේ ආන්තික පරිභෝජන නැඹියාව (MPC) **0** ක් නම් ඔබගේ පිළිතුර කෙසේ වෙනස් වන්නේදැයි පැහැදිලි කරන්න. 100 යකට සීමා වේ

① වටය ආයෝජන වැඩි වීම (ΔI) = 100

∴ සමතුලිත ජාතික ආදායම වැඩි වීම (ΔY) = 100

② වටය පරිභෝජන වැඩි වීම (ΔC) = bY = 0 × 100

∴ සමතුලිත ජාතික ආදායම වැඩි වීම (ΔY) = 0

- ආන්තික පරිභෝජන නැඹියාව ශුන්‍ය වන විට ආර්ථිකයේ ගුණක ක්‍රියාවලිය පළමු වටයට පමණක් සීමා වේ.

29.ඉහත ආර්ථිකයේ ආන්තික පරිභෝජන නැමියාව (MPC) 1 ක් නම් ඔබගේ පිළිතුර කෙසේ වෙනස් වන්නේදැයි පැහැදිලි කරන්න.

① පියවර ආයෝජන වෙනස් වැඩි වීම (ΔI) = 100

∴ මෙහි මුළු ජාතික ආදායම වැඩි වීම (ΔY) = 100

② පියවර පරිභෝජනය වැඩි වීම (ΔC) = bY = 1 × 100

∴ මෙහි මුළු ජාතික ආදායම වැඩි වීම (ΔY) = 100

- ආන්තික පරිභෝජන නැමියාව 1 ක් වන ආර්ථිකයක ගුණකය ක්‍රියාවලිය අසීමිතව ක්‍රියාත්මක වේ.

30. පහත දැක්වෙන සංකල්ප රූප සටහන් ඇසුරින් පැහැදිලි කරන්න.

(අ) ආන්තික පරිභෝජන නැමියාව (MPC) / b

- මෙහි වන ආදායම ඒකකයකින් පරිභෝජනය වෙනස් වන ප්‍රමාණය දක්වන අනුපාතයයි.

සරල	සංවෘත / විවෘත
$MPC = \frac{\Delta C}{\Delta Y}$	$MPC = \frac{\Delta C}{\Delta Yd}$

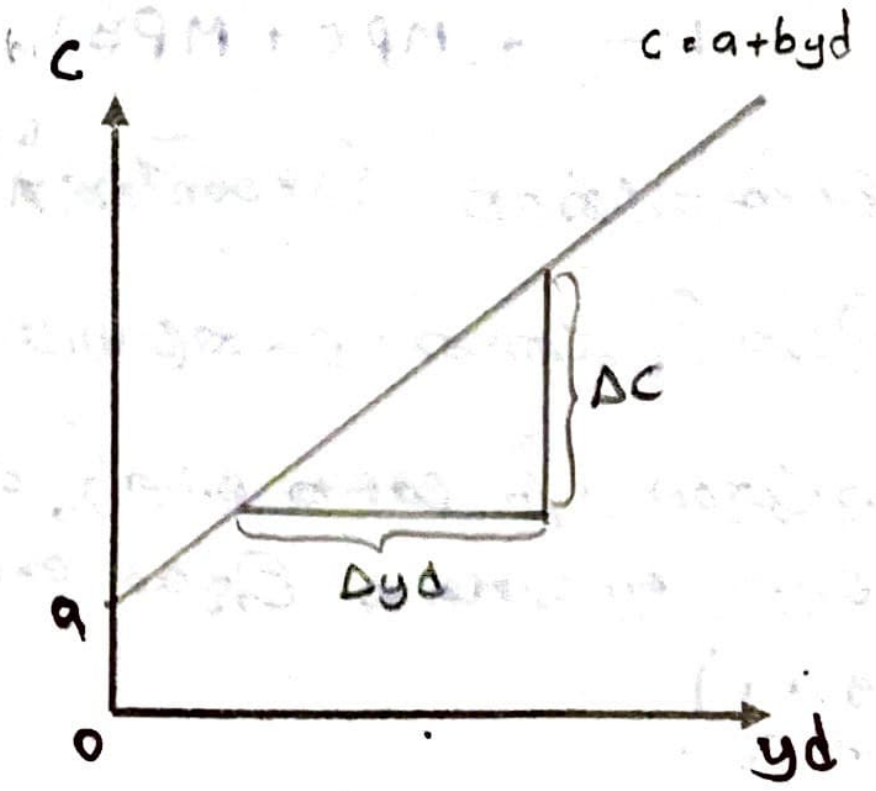

- පරිභෝජන ශ්‍රිතයේ බෑවුම = $\frac{\Delta C}{\Delta Yd}$

$MPC = \frac{\Delta C}{\Delta Yd}$

∴ MPC = පරිභෝජන ශ්‍රිතයේ බෑවුම

(ආ) ආන්තික ඉතුරුම් නැමියාව (MPS) / (1 - b)

- එනම් එක වැය කළ හැකි ආදායමෙන් ඉතුරුම සඳහා වෙන් කරන ආදායම කොටස වෙනස්වීම අනුපාතයයි.

$$MPS = \frac{\Delta S}{\Delta Y}$$

$$MPS = \frac{\Delta S}{\Delta Yd}$$

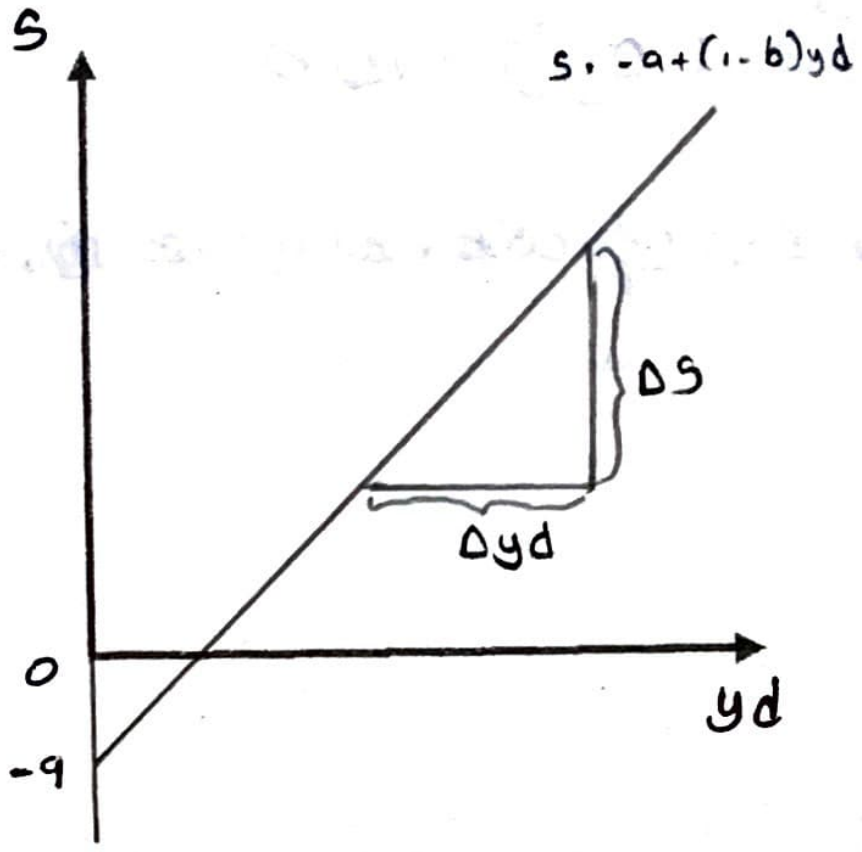

ඉතුරුම් ශ්‍රිතයේ බෑවුම $= \frac{\Delta S}{\Delta Yd}$

$MPS = \frac{\Delta S}{\Delta Y}$

∴ MPS = ඉතුරුම් ශ්‍රිතයේ බෑවුම

31. ආන්තික පරිභෝජන නැමියාවේ සහ ආන්තික ඉතුරුම් නැමියාවේ එකතුව 1 සමාන වන්නේ ඇයි?

සරල ආර්ථිකය	සංවෘත / විවෘත ආර්ථිකය
$Y = C + S$	$Yd = C + S$
$\frac{\Delta Y}{\Delta Y} = \frac{\Delta C}{\Delta Y} + \frac{\Delta S}{\Delta Y}$	$\frac{\Delta Yd}{\Delta Yd} = \frac{\Delta C}{\Delta Yd} + \frac{\Delta S}{\Delta Yd}$
$1 = MPC + MPS$	$1 = MPC + MPS$

- සරල ආර්ථිකයක ආදායම පරිභෝජනය කරන්නේ පරිභෝජනය සහ ඉතුරුම සඳහා පමණක් බැවින්ද, සංවෘත හා විවෘත ආර්ථිකයක වැය කළ හැකි ආදායම පරිභෝජනය කරන්නේ පරිභෝජනය හා ඉතුරුම සඳහා පමණක් බැවින්ද, එනම් ආර්ථිකයක ආන්තික පරිභෝජන නැමියාව හා ආන්තික ඉතුරුම් නැමියාවේ අගය 1ට සමාන වේ ($MPC + MPS = 1$)

32. පහත දැක්වෙන සංකල්ප පැහැදිලි කරන්න.

(අ) සාමාන්‍ය පරිභෝජන නැඹියාව (APC)

- වැය කළ හැකි ආදායමෙන් පරිභෝජනය සඳහා වෙන්කරන මුළු ප්‍රතිශතය / අනුපාතයයි.

$APC = \frac{C}{Y}$ | $APC = \frac{C}{Yd}$

APC , සෑමවිටම ධන අගයක් ගනී

(ආ) සාමාන්‍ය ඉතුරුම් නැඹියාව (APS)

- වැය කළ හැකි ආදායමෙන් ඉතුරුම් සඳහා වෙන් කරන ආදායම් ප්‍රමාණය / අනුපාතය

$APS = \frac{S}{Y}$ | $APS = \frac{S}{Yd}$

ආර්ථිකයක වැය කළ හැකි ආදායම උපයෝජනය කරන්නේ පරිභෝජනය හා ඉතුරුම් සඳහා පමණක් බැවින් සාමාන්‍ය පරිභෝජනය නැඹියාවේ හා සාමාන්‍ය ඉතුරුම් නැඹියාවේ එකතුව 1 ට සමාන වේ.

සරල ආර්ථිකය	සංවෘත / විවෘත ආර්ථික
$Y = C + S$	$Yd = C + S$
$\frac{Y}{Y} = \frac{C}{Y} + \frac{S}{Y}$	$\frac{Yd}{Yd} = \frac{C}{Yd} + \frac{S}{Yd}$
$1 = APC + APS$	$1 = APC + APS$

- ඕනෑම ආර්ථිකයක $APC + APS = 1$

33.'වියදම් ගුණකය' යනු කුමක් ද?

- ස්වායත්ත වියදමක් වෙනස් කරනවා මෙන් කී ගුණයකින් ජාතික ආදායම වෙනස් වේද යන්න ගුණකයෙන් පෙන්නුම් කෙරේ.

- ගුණකය K ලෙස සංකේතවත් කරන අතර සමතුලිත ජාතික ආදායමේ වෙනස (ΔY) ස්වාධීන වියදමේ වෙනසින් (ΔE) බෙදීමෙන් එය නිරූපණය කල හැකිය.

$$\text{ගුණකය} = \frac{\text{ජාතික ආදායමේ වෙනස}}{\text{ස්වායත්ත වියදමේ වෙනස}}$$

$$K = \frac{\Delta y}{\Delta E}$$

- ඕනෑම ආර්ථිකයක වියදම් ගුණකය එම ආර්ථිකයේ **"ආන්තික ගිලිහීම් අනුපාතයේ පරස්පරයට"** සමාන වේ.

$$\text{ගුණකය} = \frac{1}{\text{ආන්තික ගිලිහීම් අනුපාතය}}$$

$$K = \frac{1}{MPW}$$

- සරල ආර්ථිකයක වියදම් ගුණකය පහත පරිදි ගණනය කළ හැකිය.

$$K = \frac{1}{MPS} \qquad K = \frac{1}{1 - MPC}$$

MPS + MPT + MPM = 1

MPC + MPS

- සංවෘත ආර්ථිකයක වියදම් ගුණකය පහත පරිදි ගණනය කළ හැකිය.

$$K = \frac{1}{MPS + MPT} \qquad K = \frac{1}{1 - MPC}$$

- විවෘත ආර්ථිකයක වියදම් ගුණකය පහත පරිදි ගණනය කළ හැකිය.

$$K = \frac{1}{MPS + MPT + MPM} \qquad K = \frac{1}{1 - MPC}$$

- ආර්ථිකයක වියදම් ගුණකය ආකාර හතරකට නිරූපණය කළ හැකිය.

පරිභෝජන වියදම් ගුණකය — $k = \frac{\Delta Y}{\Delta C}$

ආයෝජන වියදම් ගුණකය — $k = \frac{\Delta Y}{\Delta I}$

රාජ්‍ය වියදම් ගුණකය — $k = \frac{\Delta Y}{\Delta G}$

අපනයන වියදම් ගුණකය — $k = \frac{\Delta Y}{\Delta X}$

$k = \frac{1}{1 - MPC}$

34. රජයේ ආර්ථික කටයුතු සමතුලිත ජාතික ආදායම කෙරෙහි බලපාන ආකාරය පහදන්න.

i. **රාජ්‍ය වියදම් සමතුලිත ජාතික ආදායම කෙරෙහි බලපාන ආකාරය**

රාජ්‍ය වියදම් ස්වායත්ත වියදමක් බැවින් ප්‍රාථමික වටයේ දී රාජ්‍ය වියදම් ඉහළ යන ප්‍රමාණයෙන්ම සමතුලිත ජාතික ආදායම ඉහළ යයි. ඉන් පසු ගුණක ක්‍රියාවලිය සාමාන්‍ය පරිදි සිදු වේ.

ඒ අනුව රාජ්‍ය වියදම් වැඩි කිරීමක් නිමැවුමට බලපාන ආකාරය, රාජ්‍ය වියදම් ගුණකය ඇසුරින් ප්‍රකාශ කල හැකිය.

$$k = \frac{\Delta Y}{\Delta G}$$

$$k = \frac{1}{1 - MPC}$$

ii. බදු අය කිරීම සමතුලිත ජාතික ආදායම කෙරෙහි බලපාන ආකාරය

රජයේ බදු, එක් වරක් පමණක් අය කරන ස්ථාවර බදු වලින් මෙන් ම. ආදායම මත වෙනස්වන ප්‍රතිශතක බදු වලින් ද සමන්විත වේ.

බදු ශ්‍රිතය : $T = Ta + ty$

T = මුළු බදු ආදායම

Ta = ස්ථාවර බදු

ty = ප්‍රතිශතක බදු

t = ආන්තික බදු නැඹුරුව $\left(MPT = \frac{\Delta T}{\Delta Y}\right)$

රජයට බදු ගෙවන විට කුටුම්බවල ක්‍රය ශක්තිය අඩු වන බැවින් එය සමාහාර ඉල්ලුම අඩු වීමට හේතු වේ. මේ නිසා බදු යනු ආදායම් ප්‍රවාහයෙන් ගිලිහීමකි. බදු පැනවීමක් සමතුලිත ජාතික ආදායමට බලපාන පිළිවෙල පහත දැක්වේ.

$\Delta T \uparrow \rightarrow \Delta Yd \downarrow \rightarrow \Delta C \downarrow \rightarrow \Delta E \downarrow \rightarrow \Delta Y \downarrow$

මේ නිසා ප්‍රාථමික වටයේ දී බදු ඉහළ යන ප්‍රමාණයෙන්ම සමතුලිත ජාතික ආදායම පහළ යාමක් සිදු නොවන අතර, සමතුලිත ජාතික ආදායම පහළ යන්නේ පරිභෝජනය පහළ යන ප්‍රමාණයෙනි. ඉන් පසු ගුණක ක්‍රියාවලිය සාමාන්‍ය පරිදි සිදු වේ.

ඒ අනුව බදු පැනවීමක බලපෑම, බදු ගුණකය ඇසුරින් ප්‍රකාශ කල හැකිය.

$$k = \frac{\Delta Y}{\Delta T}$$

$$k = \frac{-MPC}{1-MPC}$$

$E = C + I + G$

$Yd = C + S$

$Yd = Y - T$

$\Delta T \uparrow \rightarrow \Delta Yd \downarrow \rightarrow \Delta C \downarrow \rightarrow \Delta E \rightarrow \Delta Y$

100 100 80 80 80

iii. **සංක්‍රාම ලබා දීම සමතුලිත ජාතික ආදායම කෙරෙහි බලපාන ආකාරය**

රජය සංක්‍රාම ලබාදෙන විට කුටුම්බවල ක්‍රය ශක්තිය වැඩිවන බැවින් එය සමාහාර ඉල්ලුම වැඩි වීමට හේතු වේ. සංක්‍රාම ලබාදීමක් සමතුලිත ජාතික ආදායමට බලපාන පිළිවෙල පහත දැක්වේ.

$\Delta T_r \uparrow \rightarrow \Delta Yd \uparrow \rightarrow \Delta C \uparrow \rightarrow \Delta E \uparrow \rightarrow \Delta Y \uparrow$

100 100 80 80 80

මේ නිසා ප්‍රාථමික වටයේ දී සංක්‍රාම ඉහළ යන ප්‍රමාණයෙන්ම සමතුලිත ජාතික ආදායම ඉහළ යාමක් සිදු නොවන අතර, සමතුලිත ජාතික ආදායම ඉහළ යන්නේ පරිභෝජනය ඉහළ යන ප්‍රමාණයෙනි. ඉන් පසු ගුණක ක්‍රියාවලිය සාමාන්‍ය පරිදි සිදු වේ.

ඒ අනුව සංක්‍රාම ලබාදීමක බලපෑම, සංක්‍රාම ගුණකය ඇසුරින් ප්‍රකාශ කල හැකිය.

$$k = \frac{\Delta y}{\Delta T_r}$$

$$k = \frac{MPC}{1 - MPC}$$

35. ආන්තික පරිභෝජන නැඹියාව 0.8 ක් වන සංවෘත ආර්ථිකයක සිදුවන පහත සඳහන් වෙනස්වීම් සමතුලිත ජාතික ආදායම කෙරෙහි කෙසේ බලපායි ද?

i. රාජ්‍ය වියදම් රු.මි. 200 න් ඉහළ නැංවීම

$k = \frac{1}{1 - MPC}$ $k = 5$ $5 \times 200 = \Delta y$

[illegible] ගුණකය $\Delta y = 1000$

$k = \frac{1}{1 - 0.8}$ $k = \frac{\Delta y}{\Delta G}$

$k = \frac{1}{0.2}$ $5 = \frac{\Delta y}{200}$

- රාජ්‍ය වියදම් රු. මිලි. 200 වැඩි කිරීම නිසා ජාතික ආදායම

මිලියන 1000 න් වැඩි වේ

ii. ආදායම් බදු රු.මි. 200 න් ඉහළ නැංවීම

$k = \frac{-MPC}{1-MPC}$ $\quad k = \frac{\Delta Y}{\Delta T}$

$k = \frac{-0.8}{1-0.8}$ $\quad -4 = \frac{\Delta Y}{200}$

$k = \frac{-0.8}{0.2}$ $\quad 200 \times (-4) = \Delta Y$

$-800 = \Delta Y$

$k = -4$

- ආදායම් බදු රු. මිලියන 200 වැඩි කිරීම නිසා ජාතික ආදායම

රු. මිලියන 800 කින් අඩු වේ

iii. රජයේ සංක්‍රාම රු.මි. 200 න් ඉහළ නැංවීම

$k = \frac{MPC}{1-MPC}$ $\quad k = \frac{\Delta Y}{\Delta T_r}$

$4 = \frac{\Delta Y}{200}$

$k = \frac{0.8}{1-0.8}$ $\quad 4 \times 200 = \Delta Y$

$k = \frac{0.8}{0.2}$ $\quad \Delta Y = 800$

$k = 4$

- රජයේ සංක්‍රාම රු. මිලියන 200 න් වැඩි කිරීම නිසා ජාතික ආදායම රු. මිලියන 800 කින් වැඩි වේ

36.'තුලිත අයවැය ගුණකය' යනු කුමක් ද?

තුලිත අයවැය ගුණකය = රාජ්‍ය වියදම් ගුණකය + බදු ගුණකය

$$= \frac{1}{1-MPC} + \frac{-MPC}{1-MPC}$$

$$= \frac{1-MPC}{1-MPC}$$

37.කිසියම් අවස්ථාවකදී රජය විසින් රුපියල් මිලියන 500 න් රාජ්‍ය වියදම් ඉහළ දැමීමේ අරමුණින් බදු අයකිරීම රුපියල් මිලියන 500 න් ඉහළ නැංවූයේ නම් ආර්ථිකයේ මූර්ත දළ දේශීය නිෂ්පාදිතයට කුමක් සිදුවේ ද?

$\Delta G = 500$ $\quad k = \frac{\Delta Y}{\Delta E}$ $\quad \Delta Y = 500$

$\Delta T = 500$

$\Delta Y = ?$ $\quad 1 = \frac{\Delta Y}{500}$

MPC = 0.75
Yf = 2000
Y = 1600

38. ආන්තික පරිභෝජන නැඹියාව 0.75 ක් වන ආර්ථිකයක් උපකල්පනය කරන්න. තව ද එම ආර්ථිකයේ පූර්ණ සේවා නියුක්ති නිමැවුම් මට්ටම රු.බි. 2000 ක් බව ද, සැබෑ නිමුවම් මට්ටම රු.බි. 1600 ක් බව ද සිතන්න. පූර්ණ සේවා නියුක්ති නිමැවුම් මට්ටම ලඟා කර ගැනීමට පහත සඳහන් එක් එක් සංරචකය වෙනස් කළ යුත්තේ කවර ප්‍රමාණයකින් ද යන්න ගණනය කරන්න.

(අ) බදු වෙනස් කළ යුතු ප්‍රමාණය

$K = \frac{-MPC}{1-MPC}$ $\quad K = \frac{\Delta Y}{\Delta T}$

$K = \frac{-0.75}{1-0.75}$ $\quad -3 = \frac{400}{\Delta T}$

$K = \frac{-0.75}{0.25}$ $\quad \Delta T = \frac{400}{-3}$

$K = -3$ $\quad \Delta T = -133$

* ... 133 ... යුතුය.

(ආ) රාජ්‍ය වියදම් වෙනස් කළ යුතු ප්‍රමාණය

$K = \frac{MPC}{1-MPC}$ $\quad K = \frac{\Delta Y}{\Delta G}$

$K = \frac{1}{1-0.75}$ $\quad 4 = \frac{400}{\Delta G}$

$K = \frac{1}{0.25}$ $\quad \Delta G = \frac{400}{4}$

$K = 4$ $\quad \Delta G = 100$

* ... 100 ...