01. **බාටර් ක්‍රමය** යනු කුමක්දැයි පැහැදිලි කොට, බාටර් ක්‍රමය තුළ පැවති **දුර්වලතා** දක්වන්න.

- කෙනෙක්ට කිසියම් භාණ්ඩයක් හුවමාරු කරගෙන අනිත් භාණ්ඩය ලබාගන්න කැමති හිතිච්චර කුමය බාටර් කුමය වශයෙන් හැඳින්වේ.

බාටර් කුමයේ දුර්වලතා පිහිටා ඇත්තේ

01. ඕනෑම භාණ්ඩයක් අනිත් භාණ්ඩයකට හුවමාරු කරගැනීමට ඒකාබද්ධ වීමක් අවශ්‍ය වීම.
   - ඒකාබද්ධ වීමක් ඇති වුවත් හුවමාරු කරගන්නා භාණ්ඩ වල මූල්‍යමය අගයන් සමාන නොවීම නිසා හුවමාරුව සිදු කිරීමේ අපහසුතා ඇතිවීම.
02. බෙදීමෙන අඩුපාඩු
03. ගබඩා කිරීමේ අපහසුතා
04. විවිධාකාර භාණ්ඩ මිශ්‍රණ වීම
05. ඒකාකාරීකරණ කුඩා පරිමාණ වලට පෙළඹීමේ අපහසුතා
06. ආනුභවික පිරිවැය ප්‍රතිඵලදායී ආයෝජනවලට පිහිටා ණය ලබා ගැනීම

02. **'මුදල්'** නිර්වචනය කොට, **මුදලේ ප්‍රධාන කාර්යයන්** සැකෙවින් විස්තර කරන්න.

- ආර්ථිකයේ හිතා ගැනීමේ පිළිගන්නා මිනුම්කරු ක්‍රියාකාරී වේ.

- මුදලින් අපේක්ෂිත ප්‍රධාන කාර්යයන් හතරකි.

අශෝක බණ්ඩාරනායක

(මාතෘකා)

1. නිෂ්පාදිත ආකාර හා ගුණාත්මක කැපී පෙනේ

ආර්ථිකයක භාණ්ඩ හා සේවා හුවමාරු කරගැනීමේ දී මුදල් අතරමැදියෙකු ලෙස ක්‍රියා කරන බව මින අදහස් කරයි.

2. ඒවායින් ඉටුවන අරමුණු

පුද්ගලයන්ට විවිධාකාරයෙන් ලැබෙන ආදායම් අනාගත අවශ්‍යතා සඳහා මුදලින් රැස්කර තබා ගැනීමයි.

3. නිෂ්පාදිත ආකාර

භාණ්ඩ හා සේවාවල වටිනාකම පොදු ඒකකයකින් ප්‍රකාශ කිරීම සඳහා මුදල් යොදා ගත හැකි බවයි.

4. ඒ ලක්ෂණ සහිත ආකාර

කල් පසු කොට කරන ගෙවීම් කාර්යක්ෂම ලෙස සිදු කිරීමට මුදල් යොදා ගත හැකි බවයි.

03.පහත සඳහන් එක් එක් අවස්ථාවේ දී මුදලින් ඉටුවන කාර්යය කුමක් දැයි දක්වන්න.

i. පුද්ගලයෙක් බස් රථයකදී ගමන් ගාස්තු ලෙස රුපියල් 200 ක් ගෙවීම.

- හුවමාරු මාධ්‍යය

ii. අනපේක්ෂිත වසංගත තත්ත්වයක දී ප්‍රයෝජනය ඇතිවීමට පුද්ගලයෙක් රුපියල් 20,000 ක් ඉතිරි කර ගැනීම.

- ඒවායින් අනාගතයේදී ලබා ගත හැකි ප්‍රයෝජන

iii. කල්බදු ක්‍රමයට ලබාගත් වාහනයක කල්බදු වාරික ලෙස රුපියල් 15,000 ක් ගෙවීම.

- ඒ ලක්ෂණ සහිත මාධ්‍ය හා ගෙවීම් කරගත හැකි

අදෙල වත්තිකාරත්න

iv. නිවසක භාවිතාවනු ස්ථාවර දුරකථන දුරකථන බිල්පත ලෙස රු. 3000 ක් ගෙවීම
විනිමය හෝ මාධ්‍යයක් ලෙස කටයුතු කිරීම.

v. සුපිරි වෙළෙඳසැලකින් මිලට ගත් භාණ්ඩ සඳහා ණය කාඩ්පතක් භාවිතාකර ගෙවීම් කිරීම

- ඔව් හරිම තෘප්තිමත්

vi. පුද්ගලයෙක් ණය කාඩ්පතෙහි ගණුදෙනු වටිනාකම අදාල මූල්‍ය ආයතනයට පියවීම.

- ඔව් හරිම තෘප්තිමත් - විනිමය හෝ ගිවිසුම් ලෙස

04.නුවමාරු මාධ්‍යයක් ලෙස සාර්ථකව ක්‍රියා කිරීමට මුදල් විසින් සපුරාලිය යුතු නිර්ණායක කවරේ ද?

1. නුවමාරු මාධ්‍යයක් වශයෙන් පොදු පිළිගැනීම.
2. කල්පවත්නා සුළු බව.
3. සමජාතීය බව.
4. කුඩා කොටස්වලට බෙදිය හැකි බව.
5. පහසුවෙන් රැගෙන යා හැකි බව.
6. ව්‍යාජ මුදල් නෙවිත් අනුකරණ මුදල් නිකුතුව අපහසු වීම.
7. වටිනාකම ස්ථාවරව පැවතීම.(ක්‍රයණ ක්ෂමතාව ස්ථාවරව පැවතීම)

05. ද්‍රවශීලතාව යනුවෙන් කුමක් අදහස් වේ ද?

- එක්තරා වෙලාවකදී ඔයාට ඕන කරන දේ ඒ විදිහටම ලබා ගැනීමේ හැකියාව තියෙනවා නම්
- මුලදී අපි කතා කළේ මුදල් කියන්නේ ඕනෑම දෙයක් මිලදී ගන්න පුළුවන් මාධ්‍යයක් නිසා

අසේල වල්ලිඅතාරච්චි

06. පහත දැක්වෙන වත්කම් යුගල අතරින් ද්‍රවශීලතාව වැඩි වත්කම හඳුනාගන්න.

භාණ්ඩාගාර බිල්පත්	භාණ්ඩාගාර බැඳුම්කර	
ඉල්ලුම් තැන්පතු	ඉතුරුම් තැන්පතු	
ඉල්ලුම් තැන්පතු	මුදල්	
කාලීන තැන්පතු	ඉතුරුම් තැන්පතු	
ව්‍යාපාර කොටස්	භාණ්ඩාගාර බිල්පත්	
ව්‍යාපාර කොටස්	ඉඩමක්	

07. ද්‍රවශීලතාවරණය හෙවත් මුදල් ඉල්ලුම යනු කුමක්දැයි පැහැදිලි කරන්න.

- .....

- මහජනයා මුදල් ළඟ තබා ගන්නේ භාණ්ඩ හා සේවා මිලට ගැනීමේ අරමුණ ඇතිව බැවින් මුදල් සඳහා ඇත්තේ වර්තමාන හෙවත් වත්මන් ඉල්ලුමකි. මෙහි මහජනතාව යනු රජය, මහ බැංකුව සහ වාණිජ බැංකු හැර අනෙකුත් සියලුම අංශයි.

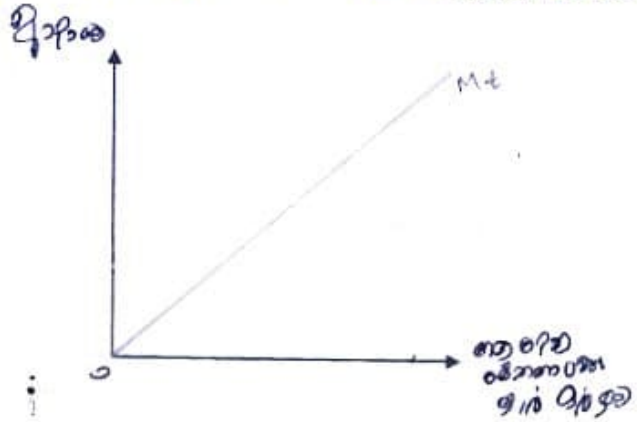
- ද්‍රවශීල වත්කමක් ලෙස මුදල් ළඟ තබා ගැනීම නිසා එම මුදල් ආයෝජනය කිරීමෙන් ඉපයිය හැකිව තිබූ පොළී, ලාභ, ලාභාංශ යනාදියඅහිමි වේ. ඒවා මුදල් ඉල්ලුමේ ආවස්ථික පිරිවැය ලෙස සැළකේ.

- මහජනයා මුදල් ඉල්ලුම් කරන්නේ ප්‍රධාන චේතනා තුන් මුල් කරගෙනයි.

1) .....
2) .....
3) .....

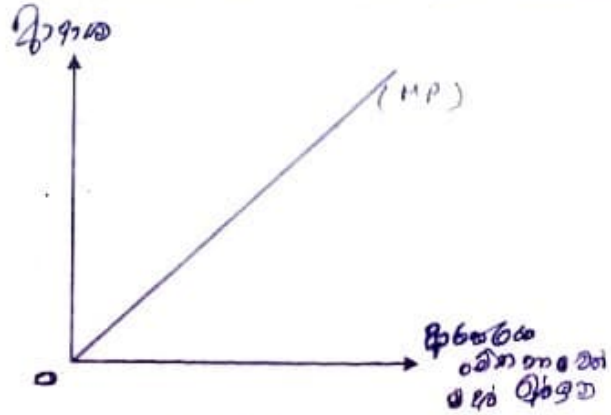
08. 'හණුදෙනු වේතනාව' මත මුදල් ඉල්ලුම පැහැදිලි කරන්න.

- පුද්ගලයෙකු ඔහුගේ ආදායම් කීයක් වියදම් කරනවා ද යන්න තීරණය වන්නේ ඔහුගේ ආදායම මත වේ. ඒ අනුව ආදායම වැඩි වන විට වියදම් කිරීම අඩු වීම නිසා ඉතිරි කිරීම් වැඩි වේ.
- ඒ අනුව ආදායම් මට්ටම් වලට අනුව ඉතිරි කිරීම් වෙනස් වේ. ඒ අනුව ඉතිරි කිරීම් ප්‍රමාණය ආදායම මත රඳා පවතින බව පැහැදිලි වේ.



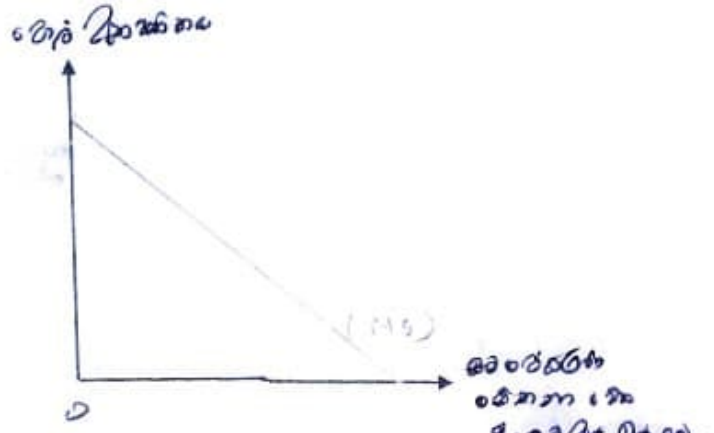
09. 'ආරක්ෂණ වේතනාව' පැහැදිලි කරන්න.

- අනාගත විපත් වැළැක්වීම අනාරක්ෂිතතාව සඳහා වියදම් කිරීම සඳහා මුදල් ඉල්ලුම් කිරීම ආරක්ෂණ වේතනාව වේ.
- ඉතිරිකිරීම් ප්‍රමාණය ඒ අය සතුව ඇති ආදායම මත තීරණය වන බැවින් ඉහළ ආදායම් ඇති පුද්ගලයන් ඉහළ ඉතිරිකිරීම් ප්‍රමාණයක් ඉල්ලා සිටී.



10. 'සමපේක්ෂණ වේතනාව' පැහැදිලි කරන්න.

- ඉදිරි කාලයේ බාහිර වෙළඳපොළ අවස්ථා පිළිබඳ ව්‍යාපාරිකයාගේ සුබවාදී අපේක්ෂාව වේ.
- මිලදී ගැනීම් කටයුතු වලින් ලබා ගන්නා ප්‍රතිලාභ ඉහළ යනු ඇතැයි විශ්වාස කරන විට ඒවා මිලදී ගැනීමට ඇති ඉල්ලුම වැඩි වේ.



11. පොළී අනුපාතිකය හා පිළිනපත් මිල අතර සම්බන්ධය විමසන්න.

- ඉල්ලුම් ප්‍රමාණය මිලදී ගන්නා විට ගබඩාවල තබා ගන්නා භාණ්ඩ වල මිල වෙනස්වීම් නිසා ලාභ ලබා ගැනීම අරමුණු කරයි.
- ඒවා විකිණීම සඳහා තබා ගැනීම වැඩි වේ.

12. පිළිගපත් මිල හා මුදල් ඉල්ලුම අතර සම්බන්ධය විමසන්න.

- පිළින පත්‍ර හා මුදල් අතර තේරීම කරනුයේ මුදල් ශේෂ සඳහා වන සමපේක්ෂණ ඉල්ලුම් චේතනාව පදනම් කරගනිමිනි.

- වර්තමානයේ පිළින පත්‍ර වල මිල අඩු වන විට අනාගතයේ පිළින පත්‍ර වල, මිල ඉහළ යන්නේ යයි අපේක්ෂා කරමින් වර්තමානයේ වැඩියෙන් පිළින පත්‍ර මිලට ගැනීමට පෙළඹේ. එය මුදල් ඉල්ලුම අඩු වීමට හේතු වේ.

- වර්තමානයේ පිළින පත්‍ර වල මිල අඩු වන විට අනාගතයේ පිළින පත්‍ර මිල අඩු වෙතැයි අපේක්ෂා කරයි. එවිට ඔහු වැඩියෙන් පිළින පත්‍ර මිලදී ගනී. එවිට අවශ්‍ය මුදල් ප්‍රමාණය අඩු වේ.

- සමපේක්ෂණ ඉල්ලුම ක්‍රියාත්මක වන්නේ පොළී අනුපාතිකය පදනම් කරගෙනය. පිළිනපත් වල මිල හා පොළී අනුපාතිකය අතර ප්‍රතිලෝම සම්බන්ධයක් පවති. එබැවින් පිළිනපත් වල මිල හා මුදල් ඉල්ලුම අතර සම්බන්ධය පොළී අනුපාතිකය ඇසුරින් ද පහැදිලි කළ හැකිය.

- පිළිනපත් මිල අඩු වන්නේ නම් පොළී අනුපාතික ඉහළ යා යුතුය. පොළී අනුපාතික ඉහළ යන විට සමපේක්ෂණ චේතනාව මත මුදල් ශේෂ සඳහා ඉල්ලුම අඩු වේ.

- පිළිනපත් මිල වැඩි වීමෙන් පසු පොළී අනුපාතිකය පිහිටිය යුතු ප්‍රමාණය ගැඹුරින් අවබෝධ කර ගැනීම සිදු කරයි.
- එමගින් පිළින පත්‍ර මිල හා පොළී අනුපාතිකය අතර ප්‍රතිලෝම සම්බන්ධතාවය ඇති වේ.

අසේල වර්ණකුලසූරිය

13. **පොළී අනුපාතිකය හා මුදල් ඉල්ලුම** අතර සම්බන්ධය විමසන්න.

- ~~ඔබ~~ ඉතිරිකිරීම් ~~ඉහළ~~ ගිය විට ~~ඉහළ~~ පොළී අනුපාතිකය ~~ඉහළ~~ ගිය විට ~~ඉහළ~~ ගිය විට ~~ඉහළ~~ ගිය විට

මූර්ත ආදායම

මිල මට්ටම

පොලී අනුපාතිකය

අනාගත උද්ධමනය හා පොලී අනුපාතික පිළිබඳ අපේක්ෂා

මූල්‍ය නවීනතාවන්

14. මුදල් ඉල්ලුමේ ප්‍රධාන නිරූක සැකෙවින් පැහැදිලි කරන්න.

/ 1. මූර්ත ආදායම

මූර්ත ආදායම ගණුදෙනු ප්‍රමාණය නිරණය කරන වැදගත් සාධකයක් බැවින් මූර්ත ආදායම ඉහළ යන විට මුදල් ඉල්ලුම ඉහළ යයි. (.....ඒකාබද්ධව.....)

/ 2. පොලී අනුපාතිකය

පොලී අනුපාතිකය ඉහළ යන විට මුදල් ළඟ තබා ගැනීමේ අවස්ථික පිරිවැය ඉහළ යන බැවින් මුදල් ඉල්ලුම පහළ යයි. (.....ඒකාබද්ධව.....)

/ 3. මිල මට්ටම

මිල මට්ටම ඉහළ යන විට ගණුදෙනුවල වටිනාකම ඉහළ යන බැවින් වැඩි වැඩියෙන් මුදල් ළඟ තබා ගැනීමට සිදු වේ. (.....ඒකාබද්ධව.....)

/ 4. අනාගත උද්ධමන අනුමානය හේතුවෙන්

අනාගත උද්ධමන අනුපාතිකය ඉහළ යතැයි අපේක්ෂා කළ විට මුදල් ශේෂවල මූර්ත අගය අඩුවිය හැකි බැවින් මුදල් ළඟ තබා ගැනීම අඩු වේ. (.....විරුද්ධව.....)

5. මූල්‍ය නවීනතා

මූල්‍ය නවීනතා ඉහළ යන තරමට මුදල් ළඟ තබා ගැනීම අඩු වේ.

(.....විරුද්ධව.....)

15. පහත සඳහන් මුදල් වර්ග පැහැදිලි කරන්න.

(අ) **ආසන්න මුදල්**

- මුම්මාරු ආකෘතියක් වලදී කෙළින්ම ගෙවීමක් වෙනුවට ගෙවීම් සිදුකිරීමට භාවිතා කරන ඩිජිටල් මාධ්‍යයක් ලෙස මුදල් හඳුන්වා දිය හැකිය.
- මුදල් ඇබෑර්තු කාර්යය ඉතා ඉක්මන් කිරීමට මෙම මුදල් භාවිත කරයි.

.....

- කාලීන හා ඉතුරුම් තැන්පතු
- ගාණ්ඩාගාර බිල්පත්
- කල්පිරීමට ආසන්න දිගු පිළිණුපත් (බැඳුම්කර)
- ඇමෙරිකානු ඩොලර්, යුආර්, යෙන් වැනි බහුල වශයෙන් ගනුදෙනුවන විදේශ මුදල්

(ආ) **ආදේශක මුදල්**

- ඩිජිටල් මෙහෙවරිය සිංහල කරන තාවකාලික මිවසාරු මාධ්‍යයක් ඩිජිටල් ලෙස හැඳින්වේ.
- මෙය ඇබෑර්තු කාර්යය ඉක්මන් ඩිජිටල් කාර්යයක් බිහිකිරීමට මඟපෙන්වයි කරයි.

.....

.....

- බැංකුවේ ජංගම ගිණුම මත පදනම් වූ වෙක්පතක්
- ණයපත්, හරපත්
- විවිධ ස්වරූපයේ විද්‍යුත් ණය

අෂ්ල වික්‍රමසූරිය

16. නියපත් මුදල් ලෙස නොසැලකෙන්නේ ඇයි දැයි පැහැදිලි කරන්න.

- ව්‍යුත්පන්න මුදල් වලට ඒවායේ ඉල්ලුම සඳහා අවශ්‍ය කරන්නේ ඒවා ලබා ගැනීමට ඇති ආශාව පමණක් නිසා ඒවා සතු වීමෙන් ඒවායේ අගය රැකී තබා ගැනීමට අවශ්‍ය නොවේ.
- නියපත් මුදල් තියාගෙන සිටීමෙන් කිසිදු කාර්ය සාධනයක් ඇතිවන්නේ නැත. එම නිසා ඒවායේ වටිනාකම ඒවායින් ලබා දෙන සේවය නිසා පවතී.
- මුල්‍ය අරෝග්‍යතා කාර්යයන් ඉටුවන්නේ අගය රැකීමෙන් හා රැක්කරන්නේ මධ්‍යස්ථයන් වශයෙන් කටයුතු කිරීම නිසාය.
- මේ වන්නේ නියපත් මුදල් වලට සාපේක්ෂව මුල් කාමකාරිත්ව මධ්‍යස්ථයන් ඇවීම නිසා ඒවා වලට යටත්වේ.

17. මුදල් සැපයුම (මූල්‍ය සමස්තය) යන්නෙන් කුමක් අදහස් වේ ද?

- නිශ්චිත වූ කාලයක දී රටක ඇති ජනතාව සතු මුදල් ප්‍රමාණය මුදල් සැපයුම වශයෙන් හැඳින්වේ.

මුදල් සැපයුම හා සම්බන්ධ ප්‍රධාන සංකල්ප දෙකකි.

1. සටු මුදල් සැපයුම
2. පුළුල් මුදල් සැපයුම

- සටු මුදල් සැපයුම යනු ජනතාව සතු සටු අර්ථ මුදල් වලින් මිල්ටන් ෆ්‍රීඩ්මන් විසින් හඳුන්වා දුන් මුදල් සැපයුම වේ.
- විභාවිකාර මුදල් යනු ආන්තික භාවිතයයි.

අසෝක වල්පොල

- මූල්‍ය ඒකක පිරිසක් එක්ව ඉලක්ක රැසක් කරා ගමන් කිරීම මූල්‍ය කළමනාකරණ ලෙස හඳුන්වා දිය හැකිද? ඔබේ අදහස් ඉදිරිපත් කරන්න.

.....

.....

මූල්‍ය කළමනාකරණය = මූල්‍ය සැලසුම් + අරමුදල් සම්පාදන

.....

.....

.....

- මූදල් සැපයුමෙහි නිර්වචන කිහිපයකි.

01. මූල්‍ය පදනම (M0)

02. පුළුල් මුදල් සැපයුම (M2)

03. ඒකාබද්ධ පුළුල් මුදල් සැපයුම (M3b)

04. විශාල පුළුල් මුදල් සැපයුම (M4)

- මූදල් සැපයුම ගණනය කිරීමේදී භාවිතාවන උපකරණ කිහිපයකි.

01. ප්‍රතිපත්තිමය අනුපාත මාර්ගය (C.P.R)

02. අතිරික්ත මුදල් සංචිත බැංකු සඳහා තිබිය යුතු අවම ප්‍රමාණය (D.D.R)

03. රක්ෂිත සඳහා බැංකු වෙනුවෙන් කාලීන හා ඉතිරිකිරීම් සඳහා (TSDR)

04. විදේශ විනිමය වගකීම් සඳහා ද්‍රව්‍ය තත්ත්ව අනුපාත ප්‍රමාණය හා ඉතිරි කළ යුතු අවම ප්‍රමාණය මිලියන 50ට වැඩි නම් 50% NRFC 50%

05. විශේෂ තැන්පතු අනුපාතය යටතේ බැංකු විසින් ඉතිරි කළ යුතු අවම ප්‍රමාණය (FCBU ee)

06. තරලතා ආවරණ අනුපාතය යටතේ බැංකු විසින් ඉතිරි කළ යුතු අවම ප්‍රමාණය (LSR)

07. ලිහිල් මූල්‍ය තොගයේ අවම ඉතිරි කිරීම් ප්‍රමාණය (RFC)

.....

LSR සඳහා NSP
SDR
RDR

අමල් වර්ධනා

18. ශ්‍රී ලංකාවේ මුදල් සැපයුමෙහි නිර්වචන පැහැදිලි කරන්න.

i) පටු මුදල් සැපයුම (M_1)

$M_1 = CP + DDP$

ii) පුළුල් මුදල් සැපයුම (M_2)

$M_2 = M_1 + TSDP$

iii) ජාතික මුදල් සැපයුම (M_2b)

$M_2b = M_2 + NRFC\ 50\% + FCBU$ සඳ

iv) විශාල මුදල් සැපයුම (M_4)

$M_4 = M_2b + LSB + RFC$

⋮

19. පදනම් මුදල් සහ මුදල් සැපයුම අතර **වෙනස** පහදන්න.

- රටක මුදල් සැපයුමට පරිභෝජන මූල්‍ය ආයතන මගින් නිකුත් කරන මුදල් ප්‍රමාණයක් ඇතුළත් වන අතර පදනම් මුදල් සැපයුමට එසේ නොවේ.
- පදනම් මුදල් වලට වඩා මුදල් සැපයුම විශාල වේ.
- පදනම් මුදල් වලට වඩා මුදල් සැපයුම සංවේදී වේ.
  - ඒ මක්නිසාද යත් මුදල් ගුණාකාරකය නිසා මුදල් සැපයුම වැඩි වීම හෝ අඩු වීම සිදු වන බැවිනි.
  - මුදල් ගුණාකාරකය යනු මුදල් සැපයුමේ වෙනස පදනම් මුදල් වෙනස මගින් බෙදූ විට ලැබෙන අගයයි.
- මුදල් සැපයුම යනු ජනතාවගේ අතේ ඇති මුදල් ප්‍රමාණයයි.
- පදනම් මුදල් වලට වඩා මුදල් සැපයුම ඉහළ අගයක් ගන්නේ ඇයි? එයට හේතුව ජනතාවගේ ඇති මුදල් ප්‍රමාණය වැඩි වීමයි.

අසේල වර්ධනකුමාර

Mab : CP + DDP + TSDP + NRFC 50% + FCBU RD

- ඊළඟ අදියර තීරණය කිරීම සඳහා අදාළ ඒකකය ලබා ගැනීමට කුමන ක්‍රමයක් භාවිත කරන්නේ ද යන්න තීරණය කළ යුතුය.

අදාළ ඒකකය = අදාළ ප්‍රදේශයේ මුළු ජනගහනය	අදාළ ඒකක ගණන = මුළු ජනගහනය × අදාළ ඒකකයේ ප්‍රතිශතය

(උදාහරණ 5 ක්)

20.ආර්ථිකයක මුදල් සැපයුම නිර්ණය කරනු ලබන සාධක කවරේ ද?

01. ජනතාව අදාළ ප්‍රතිපත්තිය

පදනම් මුදල් සැපයුම තීරණය කරන සාධක පහත දැක්වේ.

01: බැංකු නොවන මූල්‍ය විශේෂිත ආයතන

02: බැංකු වර්ග

I.) ජාතික බැංකුවේ විශේෂ ලක්ෂණ මූල්‍ය ආයතන

II) වාණිජ බැංකු විශේෂ ලක්ෂණ මූල්‍ය ආයතන

02. ඒකීය අනුපාතය ඉහළ යාම

මුදල් ගුණකයේ ප්‍රමාණය කෙරෙහි බලපාන සාධක පහත දැක්වේ

01: විනිමය අනුපාත සංවිධාන ව්‍යුහය

02: බදු අය කිරීමේ ක්‍රම

03: බැංකුවල විවේචනාත්මක අවශ්‍යතා ප්‍රතිශතය

අදෝල වර්ධනපුර

21. ශ්‍රී ලංකා මහ බැංකුව විසින් අධි බලැති මුදල් සැපයුම වැඩි කරන යාන්ත්‍රණයන් කවරේ ද?

01. මහ බැංකුව විසින් රජයට ණය මහ බැංකු මඟින් ණය ලබා දීම

- මහ බැංකුව රජයට ණය සපයන විට **ව්‍යවහාර මුදල්**, මහ බැංකුවේ ඇති ආරක්ෂිත සේප්පු වෙතින් **රජය් කරා ඇදී යයි**. රජය **විවිධ වියදම් සඳහා** එම මුදල් යොදා ගන්නා විට ඒවා **මහජනතාවගේ හා වාණිජ බැංකුවල** අත්කම් බවට පත්වේ. ඒ අනුව මහ බැංකුව රජයට හා වාණිජ බැංකුවලට සපයන ණය වැඩි වන විට **අධි බලැති මුදල්** ඉහළ යයි.
- එසේම වාණිජ බැංකු විසින් සුරැකුම්පත් හා භාණ්ඩාගාර බිල්පත් වැනි පත්‍රිකා, මහ බැංකුවට විකුණීමෙන් හෝ සෘජුවම මහ බැංකුවෙන් ණය ලබාගන්නා විට, ව්‍යවහාර මුදල් මහ බැංකුවේ සිට වාණිජ බැංකු වෙතට ගලායයි. එවිට අධි බලැති මුදල් ඉහළ යයි.

02. විදේශ විනිමය මිල දී ගන්නා විට

විදේශ විනිමය මිල දී ගන්නා විට, ඒ සඳහා මහ බැංකුව ගෙවනු ලබනුයේ දේශීය ව්‍යවහාර මුදල් වලිනි. එවිට ව්‍යවහාර මුදල් මහ බැංකුවේ සිට වාණිජ බැංකු වෙතට ගලායාමෙන් ආර්ථිකයේ අධිබල මුදල් තොගය ප්‍රසාරණය වේ.

22. පුළුල් මුදල් සැපයුම (M_2) තීරණය වීම කෙරෙහි බලපාන සාධක කවරේ ද?

01. බැංකු නොවන පොදු ජනයා විසින් දරන මුදල් ප්‍රමාණය

02. වාණිජ බැංකු පොදු ජනයා වෙත නිකුත් කරන ණය

03. බැංකු නොවන විසින් රජය වෙනුවෙන් ගනුදෙනු කරන ආකාරය

04. වාණිජ බැංකු විසින් මධ්‍යම බැංකු මූල්‍යකරණය වෙනුවෙන් ගනුදෙනු කරන ආකාරය

$M_2 = cp + DDp + TSDp$

අසේල වල්ලිකොරාල

23. ලිඛිතබද්ධ පුළුල් මුදල් සැපයුම (M_{2b}) තීරණය වීම කෙරෙහි බලපාන සාධක කවරේ ද?

ඔ1. ලිඛිතබද්ධ බැංකු තැන්පතු අදාළ වියදම් වෙනස් වීම

ඔ2. ලිඛිතබද්ධ බැංකු නොවන අදාළ වියදම් වෙනස් වීම

ඔ3. ලිඛිතබද්ධ බැ.නොවන ණය අදාළ ප්‍රතිලාභ වෙනස් වීම

ඔ4. ලිඛිතබද්ධ බැ.නොවන ණය අදාළ ප්‍රතිලාභ වෙනස් වීම

සංචිත මුදල් සහ පුළුල් මුදල් (M_{2b}) සැපයුමෙහි විචල්‍යතා ප්‍රභවය

රුපියල් බිලියන

අයිතමය	2021 අවසානයට	2022 අවසානයට (අ)	වෙනස 2021		2022	
			මුදලාංශය	%	මුදලාංශය	%
සංචිත මුදල් (ඍණ මිල)	1,305.8	1,349.4	341.4	35.4	43.6	3.3
ඔබ මැදිහත්වී ගුද්ධ විමධ්‍යගත වෙන්කළ	-387.3	-1,613.9	-914.0	-173.5	-1,226.6	-316.7
ඔබ මැදිහත්වී ගුද්ධ දේශීය වත්කම්	1,693.1	2,963.2	1,255.4	286.8	1,270.2	75.0
රජයට ලබා දුන් ගුද්ධ ණය	2,094.1	3,432.5	1,225.2	141.0	1,338.4	63.9
වාණිජ බැංකුවලට ලබා දුන් ණය	143.2	-11.5	28.7	25.1	-154.6	-108.0
අන්‍යාකූල අයිතම් (ගුද්ධ) (අ)	-244.2	-457.8	1.5	0.3	96.4	15.9
පරිමිත මුදල් (M_2)	10,647.3	12,289.6	1,241.6	13.2	1,642.3	15.4
ගුද්ධ විමධ්‍යගත වත්කම්	-982.0	-1,766.8	-772.5	-368.8	-784.8	-79.9
මුදල් අයිතමවලින් (ඍ)	-387.3	-1,613.9	-914.0	-173.5	-1,226.6	-316.7
වාණිජ බැංකු	-594.7	-153.0	141.5	19.2	441.8	74.3
ගුද්ධ දේශීය වත්කම්	11,629.3	14,056.4	2,014.1	20.9	2,427.2	20.9
සමස්ත ණය	14,002.0	16,632.3	2,280.8	19.5	2,630.3	18.8
රජයට ලබා දුන් ගුද්ධ ණය	5,832.4	7,471.1	1,284.4	28.2	1,638.7	28.1
මුළු බැංකුවල	2,094.1	3,432.5	1,225.2	141.0	1,338.4	63.9
වාණිජ බැංකු	3,738.3	4,038.6	59.2	2.6	300.3	8.0
රජයේ සහතිකවලදීම්වලින් සහ වාණිජ	1,188.1	1,747.0	185.9	18.6	558.9	47.0
විත්තකාරවලට ලබා දුන් ණය						
පොදුබලධාරීන් අංශයට ලබා දුන් ණය	6,981.4	7,414.1	810.5	13.1	432.7	6.2
අන්‍යාකූල අයිතම් (ගුද්ධ) (අ)	-2,372.7	-2,575.8	-266.7	-12.7	-203.2	-8.6

24. 2022 වර්ෂයේ ලිඛිතබද්ධ පුළුල් මුදල් සැපයුම රු.බි. 1642 කින් වැඩි විය. මුදල් සැපයුමේ මෙම වර්ධනයට බලපෑ සාධක කවරේ ද?

ඔ1. මහ බැංකුව විසින් රජය අදාළ ණය ලබා ගැනීම යටතේ

ඔ2. මහ බැංකුව විසින් රජය අදාළ ණය ලබා ගැනීම යටතේ

ඔ3. වාණිජ බැංකු විසින් රජය දෙසින ණය ලබා ගැනීම යටතේ

ඔ4. වාණිජ බැංකු විසින් ඉංග්‍රීසි පළාත අදාළ ණය ලබා ගැනීම යටතේ

ඔ5. වාණිජ බැංකු විසින ~~රජය සෙත්ත මුදල~~ වෙළඳ ගැනුම් යටතේ අදාළ ණය ලබා ගැනීම යටතේ

අසෙල වල්ලිකොන්න

25. **මුදලේ සංසරණ ප්‍රවේගය** යන්නෙන් කුමක් අදහස් වේ ද?

– රටක ආර්ථික ක්‍රියාකාරකම් නිරීක්ෂණය කරලයක් තුළ භාවිත වූ මුදල් ඒකකය විවිධ ආකාරයෙන් අලෙවි කිරීම සඳහා වරක් හෝ කිහිප වතාවක් භාවිත වේ.

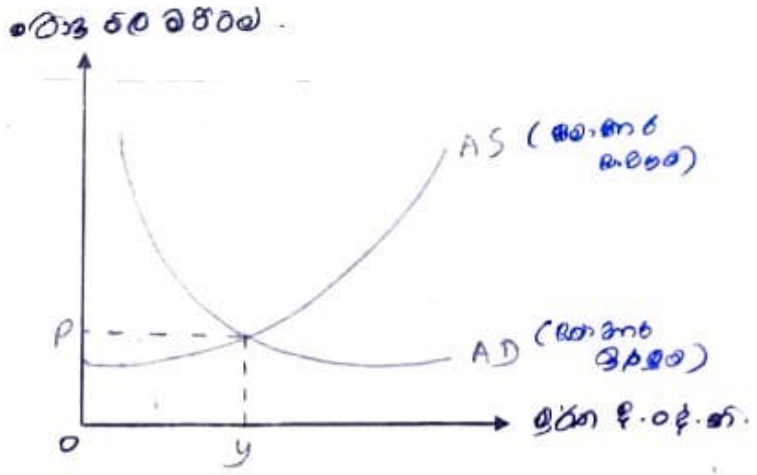
මුදලේ සංසරණ ප්‍රවේගය = (සාමාන්‍ය මට්ටම) නාමික දළ දේශීය නිෂ්පාදිතය / මුදල් සැපයුම

$V = \frac{Py}{M}$

26. **පොදු මිල මට්ටම** හෙවත් **සාමාන්‍ය මිල මට්ටම** යනු කුමක් ද? පොදු මිල මට්ටම **තීරණය වන ආකාරය** රූප සටහනක් ඇසුරින් පහදන්න.

– ආර්ථිකයේ ක්‍රියාකාරකම් රටක සියලුම භාණ්ඩ හා සේවා වල අවසාන මිල ගණන් නිරූපණය කරන දර්ශකය පොදු මිල මට්ටම වේ.

– පොදු මිල මට්ටම තීරණය වන්නේ සැපයුම් සහ ඉල්ලුම් බලවේග මගිනි.



27. සරල ආර්ථිකයක මිල දර්ශකයක් පිළියෙළ කරන ආකාරය උදාහරණයකින් දක්වන්න.

භාණ්ඩ කාණ්ඩය	2022			2023		
	මිල (P_0)	බර තැබීම (w)	මිල X බර (wP_0)	මිල (P_1)	බර තැබීම (w)	මිල X බර (wP_1)
ආහාරපාන	5000	50%	2500	5500	50%	2750
ඇඳුම් පැළඳුම්	3000	30%	900	3000	30%	900
ඉන්ධන	2000	20%	400	1500	20%	300
එකතුව	ΣwP_0		3800	එකතුව ΣwP_1		3950

ඉහත කල්පිත සරල ආර්ථිකය සඳහා මිල දර්ශකය පහත පරිදි පිළියෙළ කළ හැකිය.

- මිල දර්ශකයක් ගණනය කිරීමේදී පදනම් වර්ෂය තීරණය කිරීම...

පදනම් වර්ෂය 100 ලෙස සලකා තිබේ.

2023 වර්ෂයේ මිල දර්ශකය = $\frac{\Sigma wP_1}{\Sigma wP_0} \times 100$

$= \frac{3950}{3800} \times 100$

$= 103.9\%$

වර්ෂය	මිල දර්ශකය
2022	100
2023	103.9

3.9% වැඩිවීමක් පෙන්නුම් කරයි.

අසේල වර්ධනගම

28. මිල දර්ශකයක් යනු කුමක් ද?

- කාණ්ඩ රැසක කාලානුක්‍රමික මිල වෙනස්වීම් කාලීව සංසන්දනය කරනු සඳහා භාවිතා කරන සංඛ්‍යාත්මක මිනුම් දර්ශක නම් වේ.
- විවිධාකාර මිල දර්ශක තෝරා ගැනීම් 4 කි.
  - අ) මූලික වර්ෂය මත පදනම් වූ දර්ශක
  - ආ) ඒකක වර්ෂය මත පදනම් වූ දර්ශක
  - ඇ) නාම ව්‍යුත්පන්න දර්ශක
  - ඈ) ෆි. ඕ. ජ. ගණය මත දර්ශකය

29. මිල දර්ශක සම්බන්ධයෙන් වැදගත්වන මූලික කරුණු සඳහන් කරන්න.

අ. පිළිගත් වර්ෂය - මිල දර්ශකයක් ගණනය කිරීම සඳහා පිළිගත් වර්ෂය මූලික වර්ෂය ලෙස හඳුන්වා වර්ෂයක් ඒ සඳහා යොදා ගනියි.

ආ. පිළිගත් ඒකකය - මිල දර්ශකයක් ගණනය කිරීම සඳහා භාවිත කරන භාණ්ඩ ඒකක ආකාරයට ප්‍රකාශ කිරීම ඒකකය ලෙස හඳුන්වා යි.

ඇ. භූගෝලීය ආවරණය - මිල දර්ශකයක් ගණනය කිරීම සඳහා භාණ්ඩ සංඛ්‍යාවක් තෝරා ගැනීම භූගෝලීය ආවරණය ලෙස හඳුන්වා යි.

ඈ. කාණ්ඩ වර්ග (i) පාරිභෝගික භාණ්ඩ
(ii) ධාරක භාණ්ඩ
(iii) ශ්‍රමිකයා

මිල දර්ශකයක් ගණනය කිරීමට භාවිත කරන භාණ්ඩ වර්ග කිහිපය

අසෝල වර්ධනපුර

කරමනාව කෘත්‍යයක් වැනි විය යුතුය.

02. බර කාසිවල මූහුණත - මිල දර්ශකයේ භාවිතය සඳහා බර කාසිවල මූහුණතය විවාදයට ලක්විය යුතුය.

03. මිල රැස් කිරීමේ ඔබතැන්පාත - මිල දර්ශකයක් සංවර්ධනය කිරීමට නම් මිල සලකා බැලිය යුතු භාණ්ඩ හෝ සේවා රැස් කිරීම සඳහා යොදා ගන්නා ඔබතැන්පාත කරමනාව කෘත්‍යයක් වැනි විය යුතුය.

.....

.....

.....

.....

.....

.....

.....

.....

.....

.....

පාසල් සිසුන්ගේ සඳහා වාහන

ඇඳුමක් ඇතුළත් විශාල දේපොළක සඳහා වාහන

මිල දර්ශකවලින් මිල දර්ශකයන්ගේ මූලික ලක්ෂණ

මූලික ලක්ෂණ	ජා.ව්‍යා.මි.ද. (2013=100)	ජා.ව්‍යා.මි.ද. (2021=100)	ජ.ව්‍යා.මි.ද. (2013=100)	ජ.ව්‍යා.මි.ද. (2021=100)
දර්ශකයේ මූලාශ්‍ර වර්ෂය	2013	2021	2013	2021
මිල සැසඳීමේ මූලාශ්‍ර වර්ෂය	2012 දුසැම්බර් - 2013 දුනවි	2019 ජනවාරි - 2019 දෙසැම්බර්	2012 දුසැම්බර් - 2013 දුනවි	2019 ජනවාරි - 2019 දෙසැම්බර්
ප්‍රකාශිත ආවරණය	කොළඹ දිස්ත්‍රික්කයේ සියලුම නගරීය ප්‍රදේශ	කොළඹ දිස්ත්‍රික්කයේ සියලුම නගරීය ප්‍රදේශ	මුළු ගිවිසෙන් සියලුම පළාත්	මුළු ගිවිසෙන් සියලුම පළාත්
එක් කුටුම්බයක ප්‍රමාණය	3.9	3.8	3.9	3.7
මාසික සාමාන්‍ය වරිපනම් වියදම (රු.)	රු. 60,364.73	රු. 91,880.34	රු. 32,142.69	රු. 50,728.60
දර්ශනයකොට ඇති	603.65	918.80	321.43	507.29
ප්‍රධාන කාණ්ඩ	12	12	12	12
උප කාණ්ඩ	105	105	105	105
මිල දත්ත ඇණ	392	426	407	485
මිල විචලනය ප්‍රකාශනයක් ලෙස (බර නාමිකව)				
ආහාර	28.24	26.23	44.04	39.22
ආහාර නොවන	71.76	73.77	55.96	60.78
මිල එකතු කිරීම් සඳහා යොදා ගන්නා මිටපත්වාන ඇණ	44	10	දිස්ත්‍රික්කයක නගරයකින් අඩුවැඩි කුනක් පොදා ගනු ලබයි.	දිස්ත්‍රික්කයක නගරයකින් අඩුවැඩි කුනක් පොදා ගනු ලබයි.

අනුරුද්ධ වර්ධනපත්‍රන

30. කො.පා.මි.ද. හා ජා.පා.මි. දර්ශකය අතර සැසඳීමක් කරන්න.

සංරචක	කොළඹ පාරිභෝගික මිල දර්ශකය	ජාතික පාරිභෝගික මිල දර්ශකය
පදනම් වර්ෂය	2021	2021
පදනම් සමීක්ෂණය	2019 - ජනවාරි - 2019 දෙසැම්බර් කුටුම්බ ආදායම් වියදම් සමීක්ෂණය	2019 ජනවාරි - දෙසැම්බර් කුටුම්බ ආදායම් වියදම් සමීක්ෂණය
* භූගෝලීය ආවරණය	කොළඹ දිස්ත්‍රික්කයේ සියලුම නාගරික ප්‍රදේශ	මුළු ද්වීපයෙන් සියයට පනහක්
* බර තැබීම් වියුහය ආහාර ආහාර නොවන	26.23% 73.77%	39.22% 60.78%
ප්‍රධාන භාණ්ඩ උප කාණ්ඩ	12 105	12 105
* මුළු අයිතම ගණන	126	485
* මිල රැස් කිරීම	10	දිස්ත්‍රික්කයේ ප්‍රධාන නගරයෙන් අඛණ්ඩව කුණු බඳින්

31. දළ දේශීය නිෂ්පාදිතයේ අවධමනකය සහ පාරිභෝගික මිල දර්ශකයක් අතර වෙනස පහදන්න.

- දළ දේශීය නිෂ්පාදිතය කුල අගුලක මිල කෙළින්ම වැල මිල වගාවක් වීම වගාකරුගේ කර්තව්‍ය දළ දේශීය නිෂ්පාදිතයේ අඩංගුවෙයි නමුත් එවි

දළ දේශීය නිෂ්පාදිතය = නිමැවුම් මිලෙහි මුළු අගය දළ දේශීය නිෂ්පාදිතය

ප්‍රතිඵලය ස්ථාවර මිලෙහි දළ දේශීය නිෂ්පාදිතය

- ආර්ථිකයක් තුළ නිෂ්පාදනය කෙරෙන සියලුම අවසාන භාණ්ඩ හා සේවාවල පොදු මිල මට්ටම දළ දේශීය නිෂ්පාදිතයේ අවධමනකය මගින් මිනිනු ලැබේ. එය කුටුම්බ, ව්‍යාපාර, රාජ්‍ය යන සියලු ම අංශ පරිභෝජනය කරන භාණ්ඩ හා සේවා මෙන්ම ආයෝජනය සහ අපනයනය සඳහා නාවිතා කරන භාණ්ඩවල මිල වෙනස්වීම් ද පිළිබිඹු කරයි.

- පාරිභෝගික මිල දර්ශකයකින් සුවිශේෂී ලෙස මනිනු ලබන්නේ සාමාන්‍යයෙන් කුටුම්බ විසින් මිල දී ගන්නා භාණ්ඩ හා සේවා ස්ථාවර ප්‍රමාණයක් අඩංගු පැසක මිලෙහි වෙනස්වීම් ය.

- දළ දේශීය නිෂ්පාදිතයේ අවධමනකය ආවරණය කරනුයේ ආර්ථිකය තුළ දේශීයව නිපදවන සියලු භාණ්ඩ හා සේවා පමණි. එහෙත් පාරිභෝගික මිල දර්ශකය සඳහා තෝරා ගනු ලබන භාණ්ඩ හා සේවා පැස තුළ පරිභෝජනය සඳහා යොදා ගන්නා දේශීය භාණ්ඩ මෙන්ම ආනයනය කරනු ලබන භාණ්ඩ ද ඇතුළත් වේ.

පාරිභෝගික මිල දර්ශකය තුළ විවිධ පරිභෝජන භාණ්ඩ හා සේවා සඳහා බර තැබීම් කරනු ලබන අතර, ඒවා කාලයක් පිරිසේම ඒවා නොවෙනස්ව පවතී. එහෙත් දළ දේශීය නිෂ්පාදිතයේ අවධමනකය තුළ ඇතුළත් බරතැබීම් ව්‍යුහය, දළ දේශීය නිෂ්පාදිතයේ සංයුතිය නිරන්තරව ම වෙනස් වන බැවින් බර තැබීම් ද වෙනස්වීම්වලට පාත්‍ර වේ.

පාරිභෝගික මිල දර්ශකය සැකසීම සඳහා නිශ්චිත භාණ්ඩ පැසක් පදනම් කර ගන්නා බැවින් එම පැසට ඇතුළත් නොවන වෙනත් පාරිභෝගික භාණ්ඩ මිල ගණන් පිළිබිඹු නොවේ. එහෙත් දළ දේශීය නිෂ්පාදිතයේ අවධමනකය නිශ්චිත භාණ්ඩ පැසක් පදනම් කර නොගන්නා බැවින් සෑම භාණ්ඩයක් ම ආවරණය කරන අතර, පාරිභෝගික හැසිරීම්වල වෙනස්කම් පෙන්නුම් කරමින් අළුතින් හඳුන්වා දෙනු ලබන පාරිභෝගික භාණ්ඩ හා සේවාවන් සියල්ලක්ම අවධමනකය තුළ ඇයැප්තය වේ.

අසේල වල්ලිසේවක

32. 'මූර්ත වැටුප' යන්නෙන් කුමක් අදහස් වේ ද? මූදල් වැටුප ඉහළ ගියද මූර්ත වැටුප පහළ යා හැක්කේ කෙසේ ද?

- මූදල් වැටුපෙන් ලබා ගන්නා මිනිසා සතු තෘප්තිය කොපමණ මූදල් වැටුපෙන් ප්‍රකාශ කරයි ද එය මූර්ත වැටුප වේ.
- මූදල් වැටුප ඊට පෙර වසර වල වඩා වැඩි වෙනවා නම් වෙනත් ආදායම් වර්ග වල මිල වැඩිවෙන වේගය නිසා මූර්ත වැටුප අඩු විය හැකියි.

මූර්ත වැටුප = මූදල් වැටුප / මිල දර්ශකය

මූර්ත වැටුප = මූදල් වැටුප / මිල දර්ශකය × 100

33. 2023 වර්ෂයේ පුද්ගලයකුගේ මූදල් වැටුප රු. 50,000 ක් වන විට 2022 සහ 2023 වර්ෂවල මිල දර්ශක පිළිවෙලින් 200 ක් හා 250 ක් නම්, 2023 මූර්ත වැටුප කුමක්ද?

මූර්ත වැටුප = මූදල් වැටුප / මිල දර්ශකය × 100

= 50 000 / 250 × 200

= 40 000/= (2022 ට සාපේක්ෂව)

	2022	2023
මූදල් වැටුප	-	50 000
මිල දර්ශකය	200	250

අදාළ වර්ෂය දීලා නැති නිසා 2022 වර්ෂය සහ 2023 වර්ෂය කියන්නේ මූල වර්ෂය හා වර්තමාන වර්ෂය

2022 සංසන්දනය මූදල් වැටුප සොයාගන්න.

× අගයක් දුන්නම ÷ නම් (+) ප්‍රතිඵලය දුන්නම (−) කරන්න

34. කිසියම් රටක නාමික (මූදල් වැටුප) වැටුප් 25% ක් ඉහළ ගිය අතර අදාළ කාලසීමාව තුළ පොදු මිල මට්ටම 20% ක් ඉහළ ගියේ නම් මූර්ත වැටුපේ වර්ධන වේගය කොතරම් ද?

මූර්ත වැටුපේ වර්ධන වේගය = මූදල් වැටුපේ මූර්ත වේගය − ලබා දී ඇති මිල මට්ටමේ වර්ධන වේගය

= 25% − 20%

= 5%

අසේල වික්‍රමසූරිය

35. උද්ධමනය, අවධමනය සහ නිරුද්ධමනය යන යෙදුම් පැහැදිලි කරන්න.

→ රටක ඉහළ මිල මට්ටමක් දිගුකාලීනව පවතින තත්ත්වය උද්ධමනය වශයෙන් හැඳින්වේ.

→ රටක පවතින මිල මට්ටම් දිගුකාලීනව පහළ යාම අවධමනය වශයෙන් හැඳින්වේ.

→ රටක උද්ධමන වේගය ඍණාත්මක වීම හෙවත් අඩු වීම නිරුද්ධමනය වශයෙන් හැඳින්වේ.

36. උද්ධමන අනුපාතය හෙවත් උද්ධමන වේගය යනු කුමක් ද?

→ කිසියම් වර්ෂයක පවතින මිල මට්ටම් පෙර වර්ෂයට සාපේක්ෂව ප්‍රතිශතීය ලෙස දැක්වෙන ප්‍රමාණය උද්ධමන අනුපාතය හෝ වේගය වේ.

දර්ශකය	**2022** උද්ධමනය (2013 = 100)	**2023** උද්ධමනය (2021 = 100)
ජා.පා.මි.ද.	50.4	16.5
කො.පා.මි.ද.	46.4	17.4
නි.මි.ද. (2018=4 කාර්තුව)	74.0	11.5
ද.දේ.නි. අවධමනකය (2015 = 100)	47.5	17.5

37. රටක මුදලේ වටිනාකම (මුදලේ අගය) යන්නෙන් කුමක් අදහස් වේ ද?

→ මුදල් ඒකකය මඟින් ගත හැකි භාණ්ඩ හා සේවා ප්‍රමාණය මනින්

මුදල් ඒකක ක්‍රයශක්තිය මුදල් අගය වේ.

→ උද්ධමනයක් තුළ එක් මුදල් අගය අඩු වන අතර අවධමනයක් තුළ එක් මුදල් අගය වැඩි වේ.

අසේල වර්ධනපුර

10. ආර්ථිකයක දැකිය හැකි **විවිධ උද්ධමන වේගයන්** කවරේ ද?

01: ත්‍රිකර්ණ උද්ධමනය - මාරණාන්තික උද්ධමන වේගය 5% ට වඩා

ඉහළ මට්ටමක පැවතීම

02: ඒකක උද්ධමනය - මාර්ගික උද්ධමන වේගය ඉලක්කගත

2/3 අංකනාවක පැවතීම.

03: අනුනිද්ධමනය - මාසික උද්ධමන වේගය 50% ට වඩා වැඩි

මට්ටමක පැවතීම

11. **උද්ධමනයට බලපාන ප්‍රධාන හේතු** කවරේ ද?

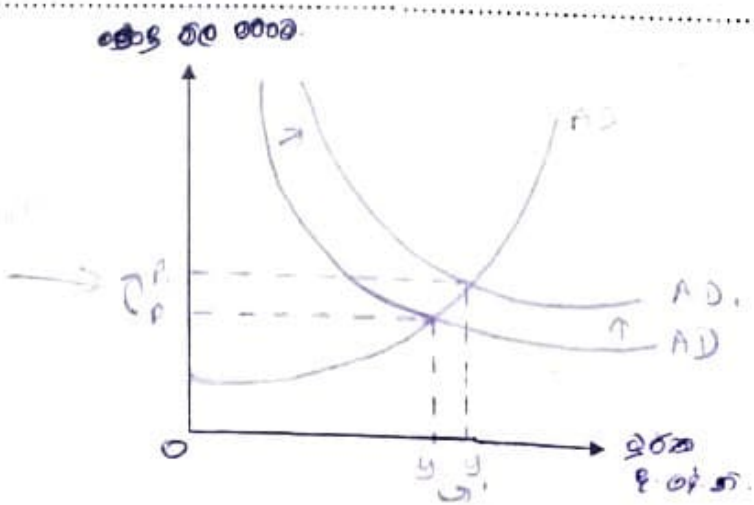
01: ඉහළ ගිය වැඩි වීම - ඉල්ලුමෙන් ඇතෙ උද්ධමනය

02: ඉහළ ගිය වැඩි වීම - පිරිවැයෙන් කෙළින ඒන උද්ධමනය

AD AS

12. **ඉල්ලුමෙන් ඇදුනු උද්ධමනය** යන්නෙන් කවරක් අදහස් වේ ද? **රූප සටහනක් ඇසුරින්** පෙන්වන්න.

- ඉහළ ගිය ඉහළට සමගාමීව ඉහළ ගිය මුළු ඉල්ලුම නිසා ඉහළ ගිය මිල මට්ටම ඉල්ලුමෙන් ඇතෙන උද්ධමනය වේ.



කොටස් ඔප්පුව තැබී ඇති ආකාර | කොටස් බෙදාහැර මැඩී ඇති ආකාර

01. සිරිමාවිතාන ඔබුදු කාල (උ) | 01. මුදිර බැංකුව ධනාත්මක කාල
02. මාගෙන්ගේ ධනාදී කාල (I) | 02. වර්තමාන ප්‍රතිපත්තිය ඵලදායී කාල
03. රාජික පියදාසි ධනාදී කාල (ආ) | 03. නිදහස් ගියකරිති මුඛ කර්මය
04. සුදර්ශන ධනාදී කාල (ඇ) | 04. රාජ්‍ය මූල්‍ය ධනාදී කාල

43. ඉල්ලුමෙන් ඇදුනු උද්ධමනය පැහැදිලි කරන න්‍යායන් කවරේ ද?

01. මුදල් ප්‍රමාණවාදී නාහාය
02. එක්ස්තියා නු නාහාය

- පරිමාණ රට / ශ්‍රේණිය / ආර්ණ
- ධූරක / ස්කන්ධර

44. විනිමය සමීකරණය සැකෙවින් පහදන්න.

- විනිමය සමීකරණය වැඩ මුදල් ඉල්ලුම් නොවේ

$MV = PY$ හෙවත් $MV = PT$

M - මුදල් සැපයුම
V - මුදලේ සංසරණ ප්‍රවේගය
P - මට්ටම් මිල මිරිවම
Y - ධූරක දේ.දෑ.නි (ස්ථාවර මිලට)
PY - වර්තමාන මිලට ධූරක දේ.දෑ.නි
T - ගනුදෙනු පරිමාව

45.මුදල් ප්‍රමාණවාදී න්‍යාය පැහැදිලි කරන්න.

- මූල්‍ය ආයතන ප්‍රතිපත්තිය හා මූර්ත ආර්ථික ක්‍රියාවලිය විශ්ලේෂණය කිරීමේදී මූල්‍ය අංශය වැදගත් කාර්යභාරයක් ඉටු කරයි. මූල්‍ය අංශයේ ක්‍රියාකාරිත්වය නොසලකා හැරීම නිසා ඇතිවන ප්‍රතිඵල පිළිබඳව මිල්ටන් ෆ්‍රීඩ්මන් විසින් ඉදිරිපත් කරන ලද න්‍යායයි.
- මූල්‍ය ක්‍රියාකාරීත්වය නොසලකා හැරීමෙන් ඇතිවන අවදානම් පිළිබඳ විග්‍රහ කරයි.

46.මුදල් තොගය 5000, මුදලේ සංසරණ ප්‍රවේගය 4, පොදු මිල මට්ටම 200 වන ආර්ථිකයක, මූර්ත නිෂ්පාදිතය හා නාමික නිෂ්පාදිතය ගණනය කරන්න.

$MV = Py$

$5000 \times 4 = 200 \times y$

$\frac{20\,000}{200} = \frac{200y}{200}$

$100 = y$ //

$P \times y = Py$

$200 \times 100 = Py$

$Py = 20\,000$ //

$M = 5000$

$V = 4$

$P = 200$

$y = ?$

$Py = ?$

47.කිසියම් ආර්ථිකයක මුදල් සැපයුම 12% න් ඉහළ ගියේ යයි සිතන්න.

i. **සංසරණ ප්‍රවේගය හා මූර්ත නිෂ්පාදිතය ස්ථාවරව පවතීනම්, උද්ධමන වේගය කොපමණ ද?**

$MV = Py$

$12\% + 0\% = P + 0\%$

$12\% = P$ //

$M = 12\%$

$V = 0\%$

$y = 0\%$

$P = ?$

ii සංසරණ ප්‍රවේගය ස්ථාවරව පවතීනම්, නාමික නිෂ්පාදිතයේ වර්ධන වේගය කොපමණ ද? Py ?

නාමික නිෂ්පාදිතයේ වර්ධන = Py

= 12% + 0%

= 12%

iii. සංසරණ ප්‍රවේගය ස්ථාවරව පවතීනම් සහ උද්ධමන වේගය 10% ක් නම් මූර්ත දළ දේශීය නිෂ්පාදිතයේ වර්ධන වේගය කොපමණ ද?

MV = Py — M = 12%

12% + 0% = 10% + y — V = 0%

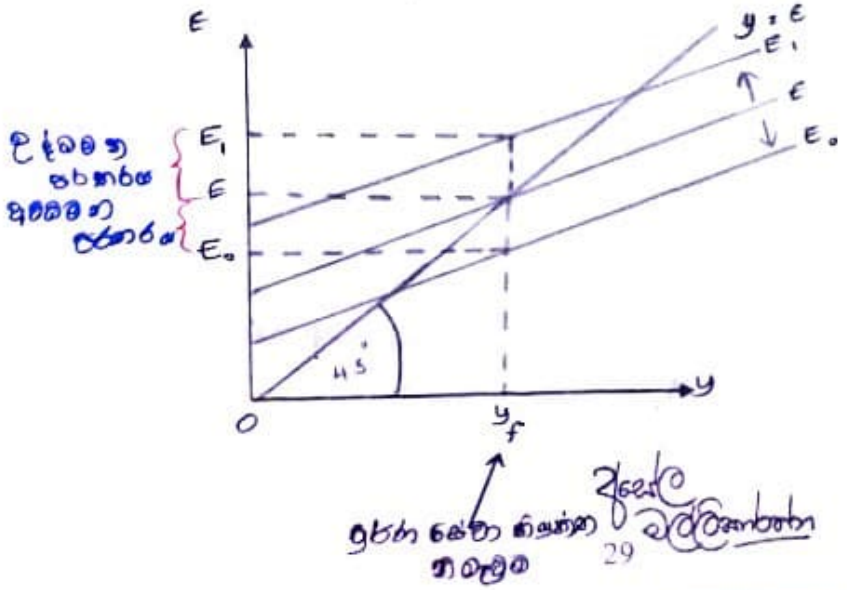
12% = 10% + y — P = 10%

10% = 12% - y — y = ?

2% = y //

48. කේන්සියානු න්‍යායට අනුව උද්ධමනය හටගන්නා ආකාරය පහදන්න.

- මූර්ත ඵල්ලා නිශ්චිත ආදායම්කරු සමස්ත ඉල්ලුම වැඩි වීම නිසා එවිට බිල අතිරේක ඉල්ලුම ඇති වීම නිසා ඇතිවෙන තත්ත්වයේ නම් යෙදේ.



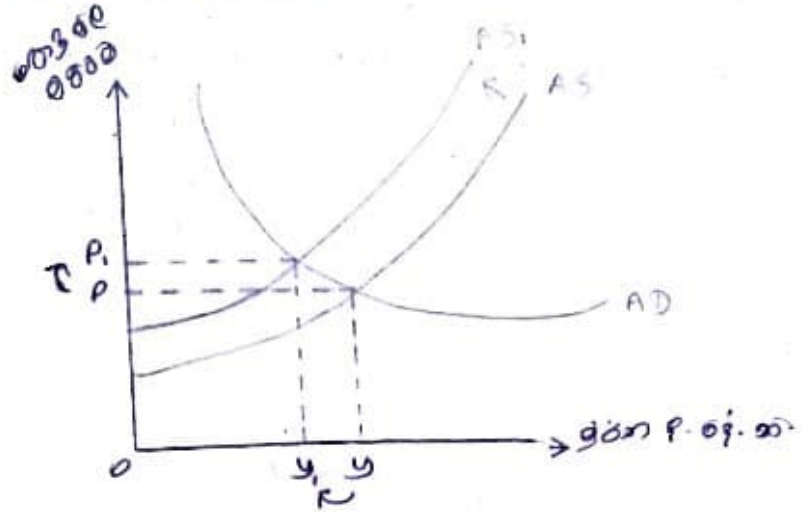
මූර්ත ඵල්ලා නිශ්චිත ආදායම් මට්ටම

අඩුවෙන වැඩිවෙන්න

- ශ්‍රේණිගත කිරීමේ ක්‍රමවේදය නිවැරදි නොවීම නිසා ඇතැම් ශිෂ්‍යයන්ට අවශ්‍ය ප්‍රමාණයට වඩා අඩු ලකුණු ලැබීම හෝ අවශ්‍ය ප්‍රමාණයට ලකුණු නොලැබීම.
- ශ්‍රේණිගත කිරීමේ ක්‍රමවේදය නිවැරදි නොවීම නිසා ඇතැම් ශිෂ්‍යයන්ට අවශ්‍ය ප්‍රමාණයට වඩා වැඩි ලකුණු ලැබීම හෝ අවශ්‍ය ප්‍රමාණයට ලකුණු නොලැබීම.

49. පිරිවැයෙන් තල්ලුවුනු උද්ධමනය යනු කුමක්දැයි පැහැදිලි කරන්න.

- ඔබේ මිතුරු මිල ඔසවා නොතිබියදී නිෂ්පාදන සාධන මිල් වීමෙන් නිෂ්පාදන වියදම් වැඩි වීම නිසා ඇතිවන උද්ධමනය ලෙස හඳුන්වයි.
- ඉල්ලුමෙන් ඇදුනු උද්ධමනයක දී මිල ඉහළ යන්නේ සමාහාර ඉල්ලුමේ ප්‍රසාරණයක් නිසා වන අතර පිරිවැයෙන් තල්ලුවුනු උද්ධමනයක දී මිල ඉහළ යන්නේ සමාහාර සැපයුමේ සංකෝචනය හේතුවෙනි.



අංශුල වික්‍රමසූරිය

ඉල්ලුමෙන් පැල්ලු වුනු උද්ධමනයට හේතු කිහිපයකි.

අ. අපේ දේශය රට විශාල ගෙවීම්

ආ. ආණ්ඩු මැදිහත් වීම් ඉහළ යෑම

ඇ. වෙළඳ ශුන්‍යතාව වැඩිවීම

ඈ. ණය ලබාගැනීම් සහ බදු වැඩිවීම

ඉ. ඵලදාව අඩුවීම

ඊ. විදේශ ආයෝජන ඉවත්වීම

- රාජ්‍ය අංශය අඩු වීම
- පෞද්ගලික අංශය වැඩි වීම

50. ෆිලිප්ස් වක්‍රය අනුව උද්ධමනය හටගන්නා ආකාරය පහදන්න.

- ආරම්භයේ සිටම ඉල්ලුම් වැඩිවීමක් නිසා ඵලදාව වැඩිවීම සිදුවේ. ඒ නිසා රැකියා අවස්ථා වැඩි වීමක් නිසා රැකියා අවස්ථා වැඩි වීමක් නිසා ඵලදාව වැඩිවීම් නිසා ඵලදාව වැඩිවීම් නිසා ඵලදාව වැඩිවීම

51. නාමික පොලී අනුපාතිකය සහ මූර්ත පොලී අනුපාතිකය අතර වෙනස පැහැදිලි කරන්න.

- මුදලේ නාමික අගය පදනම් කරගෙන ප්‍රකාශ කරන පොළී අනුපාතිකය නාමික පොළී අනුපාතකයයි. එය එදිනෙදා ගණුදෙණු සඳහා භාවිතා කරන පොළී අනුපාතිකයයි.
- නාමික පොලී අනුපාතිකය ද්‍රව්‍යමය අනුපාතිකය වූ කල එය මූර්ත පොළී අනුපාතිකය ලෙස ගනී.

> මූර්ත පොළී අනුපාතිකය = නාමික පොළී අනුපාතිකය − ද්‍රව්‍යමය අනුපාතිකය

- නාමික පොලී අනුපාතිකය කාල වීරාමක් යන අතරේ වන අඩු වැඩි වන මට්ටම් අනුසාරයෙන් ඛණ්ඩ කාලීන පොලී අනුපාතය ගණනය කිරීම සඳහා භාවිතා වේ.

52. උද්ධමනයක ආර්ථික ප්‍රතිවිපාක කවරේ ද?

1. ආදායම් බෙදී යෑමේ විෂමතාවයක් ඇතිවීම
2. ඉතිරිකිරීම් අඩු වීම
3. ස්ථාවර ආදායම් ලබන්නන් අසරණ වීම
4. සංඛ්‍යාත්මක දත්ත විශ්වාසදායක නොවීම නිසා තීරණ ගැනීමේ අපහසුතාවයට පත් වීම
5. තීරණ ගැනීමේ ක්‍රියාවලිය විකෘති වීම
6. ඉතිරිකිරීම් අඩු වීම
7. ආනයන ආශ්‍රිත අනිශ්චිතතා වැඩි වීම නිසා ආයෝජන අඩුවීම
8. ආයෝජන ඵලදායිතාව පහත් වීම
9. ආදායම් ආදායම් අඩු වීමත් ආදායම් විෂමතාවය වැඩි වීමත් නිසා සමාජ ගැටුම් ඇතිවීම
10. විනිමය අනුපාතය අස්ථාවර වීම

අසේල වර්ධනපුර